Skip to content

- Post category:Class 7 MCQs

Here we are providing **Class 7 Math MCQs** Chapter – 1 पूर्णांक because for Class 7 students as we all know that every board exam question has MCQs so that students should practice these questions so that students can get good marks in board. Class 7 Math MCQs Chapter – 1 पूर्णांक is an extremely important and its also a year in which students learn the fundamentals of concepts that help them lay a solid foundation for their higher education. Here we are providing in Class 7 Math MCQs Chapter – 1 पूर्णांक 100+questions so that students practice more and more. If you want class 7 Math Notes Then **Click Here**

Download PDF

Class 7 Math MCQs Chapter – 1 पूर्णांक

---

1. 9 x (-3) x (-6) का गुणनफल क्या होगा ?

(a) 162

(b) -162
(adsbygoogle = window.adsbygoogle || []).push({});

(c) 54

(d) 81

Ans:- (a)

2. पूर्णांकों 7,-5, 4, 0,-4 का आरोही क्रम है –

(a) 7, -5, 0, 4, -4

(b) 7, 4 -5, -4, 0

(c) -5, -4,0, 4, 7

(d) 0, -5,-4, 4, 7

Ans:- (c)

3. (-21) x (-30) का गुणनफल क्या होगा ?

(a) 630

(b) -630

(c) -210

(d) 240

Ans:- (a)

4. 4 x (-2) x (-5) की गुणा कितनी होगी ?

(a) 30

(b) 20

(c) -40

(d) 40

Ans:- (d)

5. (-6) x (-4) x (-2) = ___का मान क्या होगा ?

(a) 48

(b) 12

(c) -48

(d) -12

Ans:- (c)

6. शिमला में सोमवार को तापमान – 5°C था | और मगंलवार को यह 2°C घटा तो बताओ की मंगलवार को तापमान कितना होगा ?

(a) -7°C

(b) -3°C

(c) 3°C

(d) 7°C

Ans:- (a)

7. -3 + __ = -10 का मान क्या होगा ?

(a) -13

(b) 13

(c) 7

(d) -7

Ans:- (d)

8. (-1) x (-2) x (-3) x 4 का मान बताओ |

(a) 24

(b) -24

(c) 12

(d) -12

Ans:- (b)

9. 15 x (-1) x 2 x 0 की गुणा कितनी होगी ?

(a) -30

(b) 30

(c) 4

(d) 0

Ans:- (d)

10. 369 / …… = 369 में रिक्त स्थान पर क्या आएगा ?

(a) 1

(b) -1

(c) 23

(d) 43

Ans:- (a)

11. (-5) – (-4) x (-3) = ___का मान क्या होगा ?

(a) 60

(b) 12

(c) -60

(d) -12

Ans:- (c)

12. ___ x (-12) = 132 में रिक्त स्थान पर क्या आएगा ?

(a) 12

(b) -12

(c) 11

(d) -11

Ans:- (d)

13. (-36) / (4) = ___ में रिक्त स्थान पर है : –

(a) -9

(b) 9

(c) 10

(d) 8

Ans:- (a)

14. एक प्रश्नोत्तरी में, सही उत्तरों के लिए धनात्मक अंक दिए जाते हैं और गलत उत्तरों के लिए ऋणात्मक अंक दिए जाते हैं। यदि पांच लगातार राउंड में जॉन के स्कोर 25, – 5, – 10, 15 और 10 थे, तो अंत में उनका कुल क्या था?

(a) 35

(b) 65

(c) 50

(d) 45

Ans:- (a)

15. 5 x ……= -(35) में रिक्त स्थान पर है-

(a) 7

(b) -7

(c) 5

(d) -5

Ans:- (b)

(adsbygoogle = window.adsbygoogle || []).push({});

16. दो नकारात्मक संख्याओं का योग कैसा होता है ?

(a) सकारात्मक

(b) नकारात्मक

(c) 0

(d) 1

Ans:- (b)

17. श्रेणी को आगे बढ़ाओ ।

6, 3, 0, _

(a) -7

(b) -3

(c) -6

(d) -8

Ans:- (b)

18. (-325) / (-13) का क्या मान होगा ?

(a) -25

(b) 24

(c) 369

(d) 25

Ans:- (d)

19. जमा और घटा के दो पूर्णांकों, के फलस्वरुप चिह्न कौन से चिह्न पर निर्भर करता है ?

(a) छोटी संख्या पर

(b) उनके अन्तर पर

(c) उनके जोड़ पर

(d) बड़ी संख्या पर

Ans:- (d)

20. वह पूर्णांक जिसका (-1) के साथ गुणनफल –22 है।

(a) 22

(b) -22

(c) -1

(d) 1

Ans:- (a)

21. श्रेणी को आगे बढ़ाओ ।

-80, -75, -70, __

(a) -65

(b) -60

(c) -85

(d) -75

Ans:- (a)

22. 6 x (-15) = __ का मान क्या होगा ?

(a) 90

(b) -90

(c) -21

(d) 21

Ans:- (b)

23. सोमवार को श्रीनगर का तापमान –5°C था और मंगलवार को तापमान 2° कम हो गया । मगंलवार को श्रीनगर का तापमान था –

(a) 0°C

(b) -3°C

(c) -2°C

(d) -7°C

Ans:- (d)

24. संख्या का पता लगाओ जो –9 से 3 अधिक हो ।

(a) 12

(b) 6

(c) 5

(d) -6

Ans:- (d)

25. संख्या का पता लगाओ जो –1 से 5 अधिक है

(a) 4

(b) 3

(c) 6

(d) 5

Ans:- (a)

26. 5 x (-4) = __ का मान क्या होगा ?

(a) 20

(b) -20

(c) 90

(d) -90

Ans:- (b)

27. (-3) x (-4) = ___ का मान क्या होगा ?

(a) 12

(b) -12

(c) 7

(d) -7

Ans:- (a)

28. संख्या का पता लगाओ जो –5 से 2 कम हो ?

(a) 6

(b) 7

(c) -7
(adsbygoogle = window.adsbygoogle || []).push({});

(d) 4

Ans:- (c)

29. निम्न में से बताओ कि कौन सी संख्या ऋणात्मक संख्या है ?

(a) 4

(b) -4

(c) 6

(d) 3

Ans:- (b)

30. (-5) x 6 = __ का मान क्या होगा ?

(a) 30

(b) -30

(c) 11

(d) -11

Ans:- (b)

31. संख्या का पता लगाओ जो –90 से 100 अधिक हो ?

(a) 5

(b) -10

(c) 6

(d) 10

Ans:- (d)

32. (-3) x 5 = __ का मान क्या होगा ?

(a) 2

(b) 15

(c) -15

(d) -2

Ans:- (c)

33. एक ऐसा पूर्णांक युग्म जिसका योग –7 है।

(a) 3+4

(b) (-3) + (4)

(c) (-3) + (-4)

(d) (3) + (-4)

Ans:- (c)

34. (-2) x (-5) x (-3) = ___ का मान क्या होगा ?

(a) 30

(b) 10

(c) -30

(d) -10

Ans:- (c)

35. दो सकारात्मक संख्याओं का योग कितना होता है ?

(a) नकारात्मक

(b) सकारात्मक

(c) 0

(d) 1

Ans:- (b)

36. (-2) x (3 + 5) = ____ का मान क्या होगा ?

(a) -10

(b) 10

(c) 16

(d) -16

Ans:- (d)

37. 3 x (-1) का गुणनफल क्या होगा ?

(a) 3

(b) -3

(c) 4

(d) -4

Ans:- (b)

38. श्रीनगर तापमान में सोमवार को –5 °C था। बुधवार को, यह 4°C तक बढ़ गया।

(a) -1°C

(b) -9°C

(c) 1°C

(d) 9°C

Ans:- (a)

(adsbygoogle = window.adsbygoogle || []).push({});

39. (-4) x [(-2) + 7] = ___का मान क्या होगा ?

(a) 1

(b) -1

(c) 20

(d) -20

Ans:- (d)

40. एक विमान समुद्र तल से 5000 मीटर की ऊंचाई पर उड़ रहा है। एक विशेष बिंदु पर, यह समुद्र तल से 1500 मीटर की दूरी पर तैरने वाली पनडुब्बी से ठीक ऊपर है। उनके बीच लंबवत दूरी क्या है?

(a) 6500 m

(b) 3500-m

(c) 3000-m

(d) .6000-m

Ans:- (a)

Please Share This Share this content

- Opens in a new window



- Opens in a new window

- Opens in a new window

- Opens in a new window

- Opens in a new window

- Opens in a new window

- Opens in a new window

- Opens in a new window

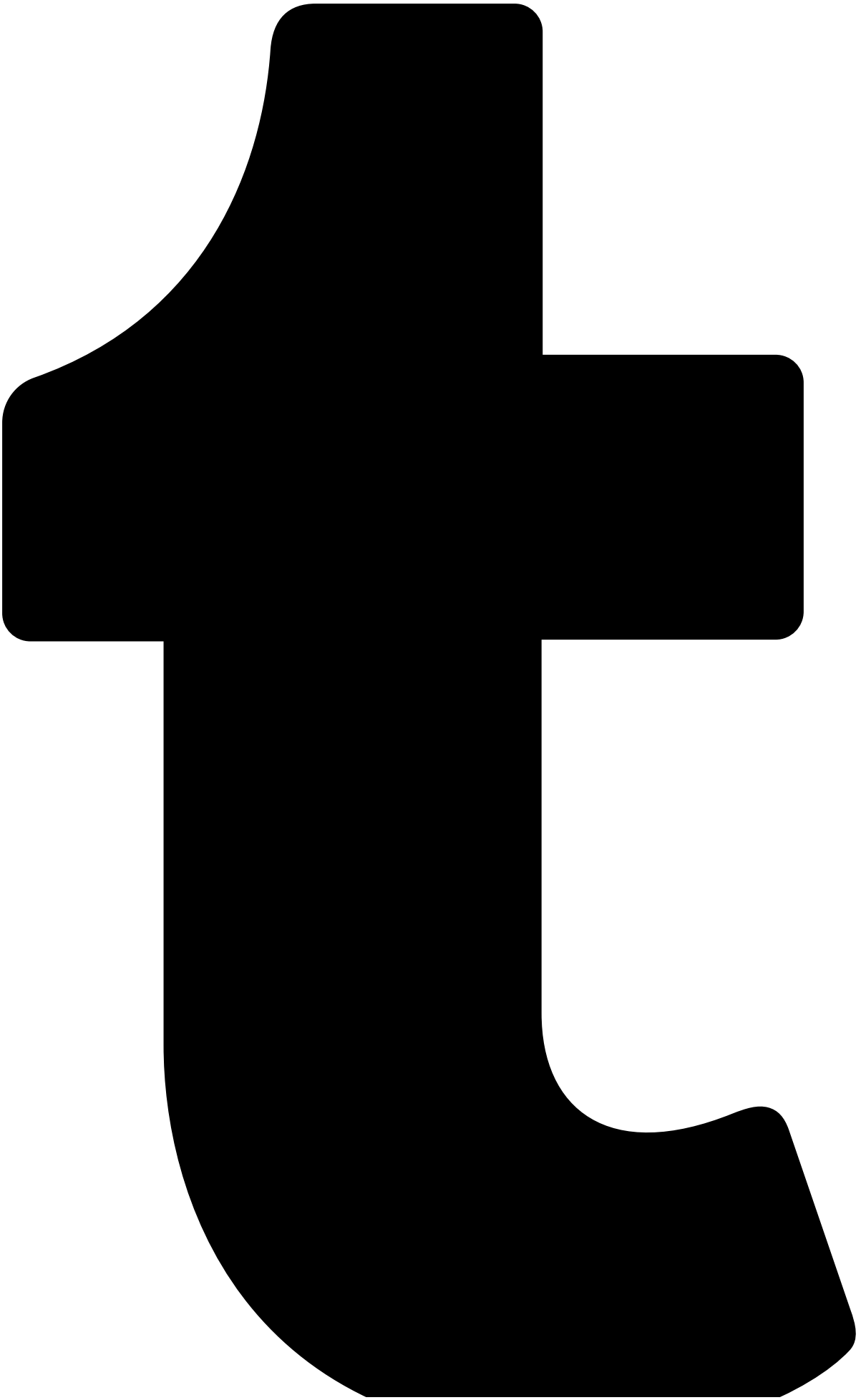

- Opens in a new window



- Opens in a new window

Read more articles

You Might Also Like

Class 7 Social Science Our Past MCQs Chapter – 10 Eighteenth Century Political Formations

April 4, 2023

NCERT Class 7 Science MCQs

June 23, 2022

Class 7 Social science Geography MCQs Chapter – 4 वायु

November 22, 2022