Skip to content

- Post category:Uncategorized

Here we are providing **Class 7 Math MCQs** Chapter – 2 भिन्न और दशमलव because for Class 7 students as we all know that every board exam question has MCQs so that students should practice these questions so that students can get good marks in board. Class 7 Math MCQs Chapter – 2 भिन्न और दशमलव is an extremely important and its also a year in which students learn the fundamentals of concepts that help them lay a solid foundation for their higher education. Here we are providing in Class 7 Math MCQs Chapter – 2 भिन्न और दशमलव 100+questions so that students practice more and more. If you want class 7 Math Notes Then **Click Here**

1. भिन्न (p +q) /q

(a) पी

(b) p/q +q

(c) p/q +1

(d) p/q +p

ANS-(C)

2. एक उचित भिन्न का व्युत्क्रम क्या है?

(a) 1

(b) एक अनुचित अंश

(c) एक उचित भिन्न भी

(d) एक इकाई अंश

ANS-(B)

3. 4/5 के बराबर भिन्न चुनें?

(a) 20/25

(b) 16/25

(c) 20/16

(d) 20/35

ANS-(A)

4. एक वर्ग 2/a की एक भुजा, इसकी परिधि क्या है?

(a) 4/a

(b) 4/a2

(c) 8/a

(d) 8/a2

ANS-(C)

5. 5/7× 3/5× 2/5 ×5 का गुणनफल क्या है?

(a) 3

(b) 11/7

(c) 36/7

(d) 6/7

ANS-(D)

6. 9/13 + 5/13 हल करें

(a) 14/13

(b) 13/13 = 1

(c) 4/13

(d) 6/13

ANS-(A)

7. अवरोही क्रम में लिखें 4/5, 2/3, 1/2, 3/4

(a) 4/5>2/3> 1/2 3/4

(b) 1/2>2/3>4/5>3/4

(c) 3/4>1/2>4/5>2/3

(d) 4/5>3/4>2/3>1/2

ANS-(D)

8. 1 3/11 का व्युत्क्रम

(a) 11/13

(b) 11/10

(c) 11/9

(d) 11/14

ANS-(D)

9. जब दो अंशों का गुणनफल एकता होता है, तो प्रत्येक को क्या कहा जाता है?

(a) दूसरे का भाजक

(b) दूसरे का प्रगणक

(c) दूसरे का योजक व्युत्क्रम

(d) दूसरे का पारस्परिक

ANS-(D)

10. हल करें 7 1/3 = 3 2/3

(a) -85/21

(b) 85/21

(c) 1/3

(d) 1/7

ANS-(B)

11. निम्नलिखित में से कौन सा भिन्न अन्य तीन के बराबर नहीं है?

(a) 2/5

(b) 26/65

(c) 14/35

(d) 34/68

ANS-(D)

12. सरल ीकृत करें 3 1/4 + 1/2÷ 3/4 – 1/2× 3 1/2

(a) 2 1/6

(b) 3 1/6

(c) 2 1/5

(d) 3 1/5

ANS-(A)

13. निम्नलिखित में से कौन सा एक उचित भिन्न है?

(a) 28/15

(b) 21/23

(c) 16/7

(d) 34/3

ANS-(B)

14. सबसे बड़ा एक चुनें।

(a) 3/7

(b) 5/13

(c) 5/7

(d) 2/13

ANS-(C)

15. (2/5 +3/5) ÷ (7/5 -4/10)

(a) 1

(b) 0

(c) 3/5

(d) 5/7

ANS-(A)

16. जब उत्पाद को सरल बनाया जाता है (2- 1/3) (2- 3/5) (2-5/7) (2- 17/19)

(a) 21/9

(b) 23/3

(c) 19/17

(d) कोई नहीं

ANS-(D)

17. दशमलव संख्या को 100 से गुणा करने के लिए, दशमलव बिंदु को दाईं ओर किसके द्वारा स्थानांतरित करें?

(a) एक स्थान

(ब) 2 स्थान

(c) 3 स्थान

(d) 4 स्थान

ANS-(B)

18. गुणा करें और निम्नतम रूप में घटाएं और मिश्रित भिन्न में परिवर्तित करें। 16×2/5?

(a) 2 7/12

(b) 5 6/2

(c) 6 3/5

(d) 6 2/5

ANS-(D)

19. 0 की तुलना करें। 5 और 0. 05.

(a) =

(b) >

(c) <

(d) इनमें से कोई नहीं

ANS-(B)

20. बॉक्स में संख्या ≅ इस प्रकार प्रदान करें कि 3/5 x ≅ = 24/75।

(a) 7/15

(b) 8/15

(c) 5/3

(d) इनमें से कोई नहीं

ANS-(B)

21. 220 में से 1/4 ज्ञात कीजिए।

(a) 45

(b) 55

(c) 65

(d) 75

ANS-(B)

22. (3/4÷ 2/3) के 1/2 का मान क्या है?

(a) 3/16

(ब) 9/16

(c) 3/6

(d) 9/4

ANS-(B)

23. यदि 25 ×32 = 800 तो 2. 5 × | 32 =

(a) 0. 800

(b) 8. 00

(c) 80. 0

(d) I 0800

ANS-(A)

24. यह चित्र क्या दर्शाता है:

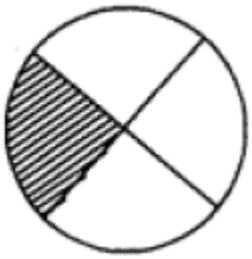

(a) 13

(b) 12

(c) 16

(d) 14

ANS-(D)

25. एक समबाहु त्रिभुज की भुजा 3 है। 5 सेमी। इसकी परिधि ज्ञात कीजिए।

(a) 10. 5 सेमी

(b) 1. 05 सेमी

(c) 105 सेमी

(d) इनमें से कोई नहीं

ANS-(A)

26. 36 ÷ 2/3 =?

(a) 81

(b) 72

(c) 54

(d) 63

ANS-(C)

27. 0. 0302×0. 52 =

(a) 0. 051704

(b) 0. 015407

(c) 0. 15704

(d) कोई नहीं

ANS-(B)

28. निम्नलिखित में से कौन सा सबसे बड़ा है?

|-89|, -89, -21, |-21|

(a) -89

(b) -21

(c) |-89 |

(d) |-21 |

ANS-(C)

29. 54 × 3 5/7 =?

(a) 205 1/5

(b) 209 1/8

(c) 206 5/7

(d) 208 2/7

ANS-(D)

30. आयत का क्षेत्रफल ज्ञात कीजिये जिसकी लंबाई 5 है। 7 सेमी और चौड़ाई 3 सेमी है।

(a) 171 सेमी2

(b) 1. 71 ccm2

(c) 17. 1 सेमी2

(d) इनमें से कोई नहीं

ANS-(C)

31. 0. 04 + 404/1000 =

(a) 0. 0404

(b) 0. 0444

(c) 444

(d) 0. 444

ANS-(D)

32. एक्सप्रेस 5 सेमी मीटर में।

(a) 1 05

(b) 1 5

(c) 1 005

(d) इनमें से कोई नहीं

ANS-(A)

33. विभिन्न भाजकों वाले अंशों को क्या कहा जाता है?

(a) जैसे

(b) इसके विपरीत

(c) उचित

(d) अनुचित

ANS-(B)

34. 16/7 ÷ 4/7 ज्ञात कीजिये?

(a) 6

(b) 4

(c) 5

(d) 2

ANS-(B)

35. दशमलव संख्या को 1000 से विभाजित करने के लिए, दशमलव बिंदु को बाईं ओर किसके द्वारा स्थानांतरित करें?

(a) एक स्थान

(ब) 2 स्थान

(c) 3 स्थान

(d) 4 स्थान

ANS-(C)

36. 16. 96÷ 400 =

(a) 420

(b) 0. 0424

(c) 420। 04

(d) 0. 420

ANS-(B)

37. 1 का मान। 8/(0. 4×0.3) है।

(a) 0. 3/0. 2

(b) 0. 4/0. 2

(c) 6/0। 3

(d) कोई नहीं

ANS-(D)

38. कौन सा बड़ा है?

(a) 0. 001

(b) 0. 05

(c) 0. 7

(d) 0. 9

ANS-(D)

39. (0. 5) 2×(0.1) 3 का मान क्या है?

(a) 25

(b) 0. 00025

(c) 0. 25

(d) 0. 0025

ANS-(B)

40. एक्सप्रेस रुपये में 7 पैसे।

(a) 7/10

(b) 7/100

(c) 7/1000

(d) इनमें से कोई नहीं

ANS-(B)

41. 7 पैसे किसके बराबर है?

(a) 0 रुपये। 7

(b) 0 रुपये। 07

(c) 0 रुपये। 007

(d) 0 रुपये। 0007

ANS-(B)

42. 9 रुपये 50 पैसे का दशमलव का उपयोग करके रुपये के रूप में व्यक्त करें।

(a) 9. 7

(b) 0. 95

(c) 9. 050

(d) 9. 50

ANS-(D)

43. यदि 43 मीटर = 0। 086 तो m का मान है।

(a) 0. 002

(b) 0. 02

(c) 0. 2

(d) 2

ANS-(A)

44. 3 के अंतर को जोड़ने का परिणाम। 003 और 2. उनके योग के लिए 05

(a) 6. 006

(b) 60. 06

(c) 600। 6

(d) 0. 6060

ANS-(A)

45. 0 का औसत ज्ञात कीजिए। 3, 3, 0. 03, और 0. 002 is

(a) 0. 833

(b) 0. 803

(c) 83. 3

(d) 833

ANS-(A)

46. 78 का पता लगाएं। 5 ÷ 0. 5?

(a) 153

(b) 159

(c) 158

(d) 157

ANS-(D)

47. 5/8 का व्युत्क्रम ज्ञात कीजिये।

(a) 8/5

(b) 5

(c) 8

(d) इनमें से कोई नहीं

ANS-(A)

48. 30 की तुलना में 10 किमी कितना कम है? 6 किमी?

(a) 10. 6 किमी

(b) 20. 6 किमी

(c) 30. 6 किमी

(d) 10 किमी

ANS-(B)

49. 0. 089 मीटर सेमी में क्या है?

(a) 89

(b) 8. 9

(c) 890

(d) 0. 89

ANS-(B)

50. 0. 088/2. 2 किसके बराबर है?

(a) 0. 4

(b) इनमें से कोई नहीं

(c) 0. 04

(d) 4

ANS-(C)

51. 58 का पता लगाएं। 3×1000?

(a) 53800

(b) 58300

(c) 5830

(d) 583

ANS-(B)

52. भारतीय क्रिकेट टीम ने न्यूजीलैंड के साथ हारने की तुलना में 4 अधिक मैच जीते। यदि उसने अपने 3/5 मैच जीते, तो भारत ने कितने मैच खेले?

(a) 8

(b) 12

(c) 16

(d) 20

ANS-(D)

53. निम्नलिखित दशमलव संख्या में 2 का स्थान मान लिखिए: 2. 56

(a) 5

(b) 1 06

(c) 2

(d) इनमें से कोई नहीं

ANS-(C)

54. 0. 8007 × 1000 किसके बराबर है?

(a) 8. 007

(b) 8007 1 0

(c) इनमें से कोई नहीं

(d) 800 1 7

ANS-(D)

55. निम्नलिखित दशमलव संख्या में 2 का स्थान मान लिखिए: 10. 25

(a) 2 दसियों

(ब) 2 दसवां भाग

(c) इनमें से कोई नहीं

ANS-(B)

56. 25 का मान। 75/100 किसके बराबर है?

(a) इनमें से कोई नहीं

(b) 0. 2575

(c) 257। 5

(d) 2. 575

ANS-(B)

57. किग्रा में एक्सप्रेस 3593 ग्राम

(a) 3593

(b) 359। 3

(c) 35. 93

(d) 3. 593 किलो

ANS-(D)

58. 2 का मान। 2 × 0. 2 × 0. 001 किसके बराबर है?

(a) 0. 00044

(b) 4. 4

(c) इनमें से कोई नहीं

(d) 4. 2

ANS-(A)

59. 0. 01 × 0. 01 = _____

(a) 0. 0001

(b) 0. 001

(c) 1

(d) 0. 1

ANS-(A)

60. यदि 14 × 4 = 56 है तो 0 का मान क्या है? 14 × 4 है

(a) इनमें से कोई नहीं

(b) 0. 056

(c) 5. 6

(d) 0. 56

ANS-(D)

61. 0. 35 × 0. 2 किसके बराबर है?

(a) 70. 0

(b) 0. 7

(c) 0. 070

(d) 7. 0

ANS-(C)

62. यदि 256/16 = 16 है तो 2 का मान क्या है? 56/16 किसके बराबर है?

(a) 0. 16

(b) इनमें से कोई नहीं

(c) 16. 0

(d) 1. 6

ANS-(A)

63. जिस भिन्न में प्रगणक भाजक से कम है, उसे ____ भिन्न कहा जाता है

(a) अनुचित

(b) इसके विपरीत

(c) उचित

(d) जैसे

ANS-(C)

64. 0 ज्ञात कीजिए। 2 x 0. 3

(a) 0. 6

(b) 0. 06

(c) 6

(d) इनमें से कोई नहीं

ANS-(B)

65. दो उचित अंशों के गुणनफल का मान प्रत्येक भिन्न से always_____ है

(अ) कम

(b) इनमें से कोई नहीं

(c) बराबर

(d) अधिक

ANS-(A)

66. 3/7/का व्युत्क्रम क्या है?

(a) 7/5

(b) 7-6

(c) इनमें से कोई नहीं

(d) 7/3

ANS-(D)

67. एक सप्ताह का 5/7 दिन ___ दिन है

(a) 7 दिन

(ब) 2 दिन

(c) 5 दिन

(d) इनमें से कोई नहीं

ANS-(C)

68. निम्नलिखित में से कौन सा एक अनुचित भिन्न है?

(a) 20/70

(b) 30/40

(c) 50/20

(d) 70/80

ANS-(C)

69. 7. 235 किग्रा किसके बराबर है?

(a) 7235 ग्राम

(b) 0. 7235 ग्राम

(c) इनमें से कोई नहीं

(d) 72. 35 ग्राम

ANS-(A)

70. 7204 मीटर __ के बराबर है

(a) 72. 04 km

(b) 7. 204 किमी

(c) 0. 7204 किमी

(d) इनमें से कोई नहीं

ANS-(B)

71. 1245/100 किसके बराबर है?

(a) 12. 45

(b) 1. 245

(c) 124 | 5

(d) इनमें से कोई नहीं

ANS-(A)

72. 10 में से 1/2 क्या है?

(a) 6

(b) 4

(c) 3

(d) 5

ANS-(D)

73. निम्नलिखित में से कौन सा सबसे छोटा है: 14/25 , 57/100 , 49/86 , 3/5

(a) 14/25

(b) 57/100

(c) 49/86

(d) 3/5

ANS-(A)

74. किन भागों में भिन्न आरोही क्रम में हैं?

(a) 16/19, 19/21, 11/14

(b) 11/14, 19/21, 16/19

(c) दोनों

(d) इनमें से कोई नहीं

ANS-(B)

75. $0.64 \times 0.64 + 0.64 \times 0.72 + 0.36 \times 0.36 = . . .$

(a) 1

(b) 0. 8962

(c) 0. 9682

(d) 0. 5392

ANS-(A)

76. आयत का क्षेत्रफल ज्ञात कीजिये जिसकी लंबाई 6 है। 7 सेमी और चौड़ाई 2 सेमी है।

(a) 13 सेमी2

(b) 13. 4 सेमी2

(c) 13. 8 सेमी2

(d) 14 सेमी2

ANS-(B)

77. निम्नलिखित में से कौन सा कथन सत्य है?

(a) $1.14 < 1.2$

(b) $1.14 < 1.040$

(c) $1.143 > 1.15$

(d) $1.14 > 1.2$

ANS-(A)

78. 0 से क्या घटाया जाना चाहिए? 0 प्राप्त करने के लिए 1. 03?

(a) I 007

(b) इनमें से कोई नहीं

(c) 07

(d) 0. 7

ANS-(C)

Please Share This Share this content

- Opens in a new window



- Opens in a new window

- Opens in a new window

- Opens in a new window

- Opens in a new window

- Opens in a new window

- Opens in a new window

- Opens in a new window

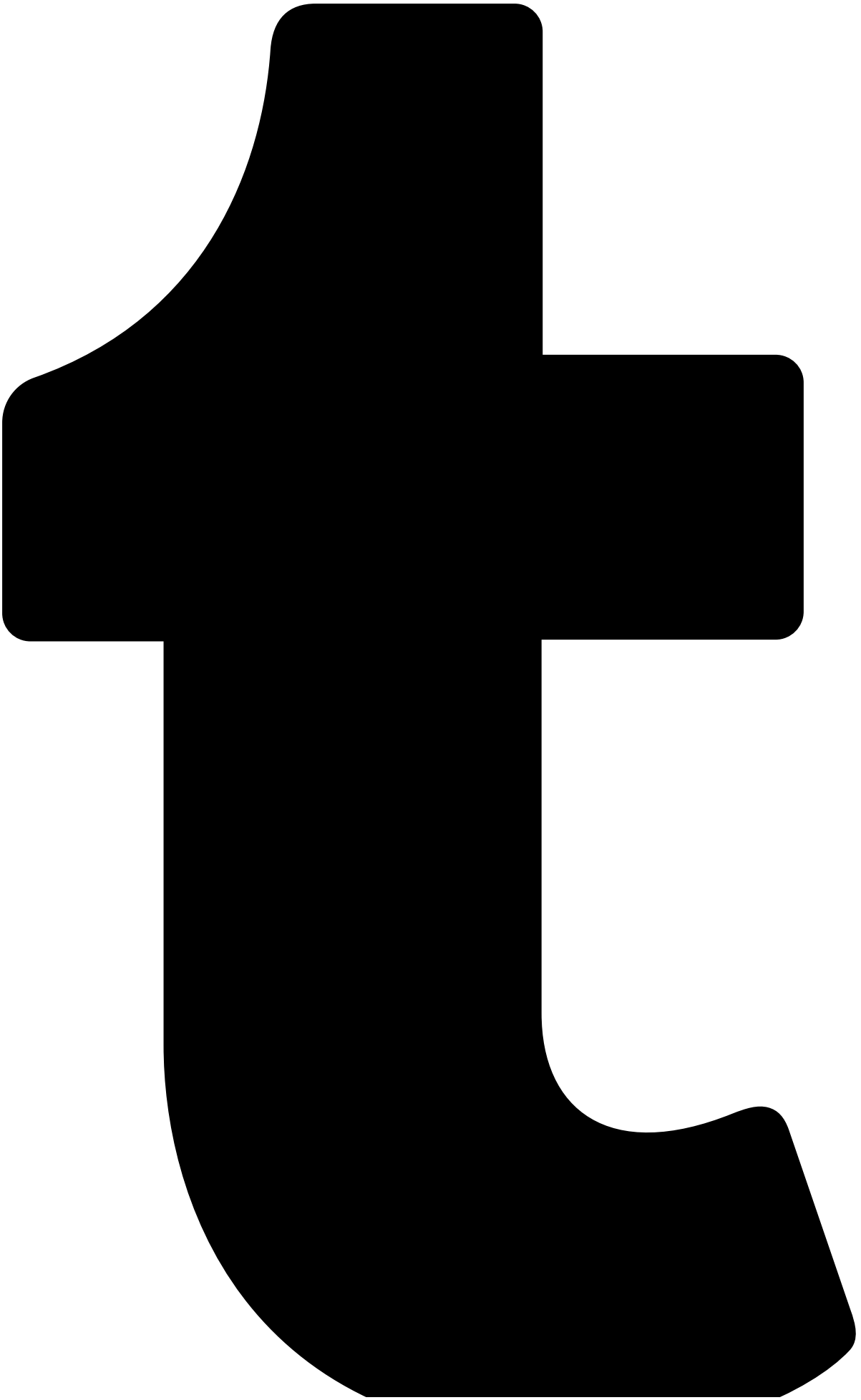

- Opens in a new window



- Opens in a new window

You Might Also Like

CBSE Class 10 Social Science

April 24, 2023

CBSE Class 11 Business Studies MCQs

May 4, 2023

CBSE Class 11 Chemistry Subjective

May 4, 2023