Skip to content

- Post category:Uncategorized

Here we are providing **Class 7 Math MCQs** Chapter – 3 आँकड़ो का प्रबंधन because for Class 7 students as we all know that every board exam question has MCQs so that students should practice these questions so that students can get good marks in board. Class 7 Math MCQs Chapter – 3 आँकड़ो का प्रबंधन is an extremely important and its also a year in which students learn the fundamentals of concepts that help them lay a solid foundation for their higher education. Here we are providing in Class 7 Math MCQs Chapter – 3 आँकड़ो का प्रबंधन 100+questions so that students practice more and more. If you want class 7 Math Notes Then **Click Here**

Download PDF

1. एक बैग में 2 लाल, 3 नीली और 5 काली गेंदें हैं। बैग में देखे बिना बैग से एक गेंद खींची जाती है। एक गैर-नीली गेंद प्राप्त करने की संभावना क्या है?

(a) 3/5

(b) 7/10

(c) 2/5

(d) इनमें से कोई नहीं

उत्तर-(b)

2. पहली छह अभाज्य संख्याओं का माध्य क्या है?

(a) 7.83

(b) 5.83

(c) 6.83

(d) 4.83

उत्तर- (c)

3. 6, y, 7, x और 14 का माध्य 8 है। निम्नलिखित में से कौन सा कथन सत्य है?

(a) x + y = 13

(b) x-y = 13

(c) 2x+3y = 13

(d) x2+y = 15

उत्तर- (a)

एक सप्ताह में एक ऐतिहासिक स्थान पर जाने वाले पर्यटकों की संख्या निम्नलिखित तालिका में दिखाई गई है:

Day	Number of tourists
Monday	65
Tuesday	72
Wednesday	98
Thursday	84
Friday	60
Saturday	108
Sunday	160

4. किस दिन पर्यटकों की संख्या अधिकतम होती है?

(a) रविवार

(b) बुधवार

(c) मंगलवार

(d) शनिवार

उत्तर- (a)

5. संख्याओं के निम्नलिखित सेट का मोड क्या है?

1, 2, 3, 2, 1, 5, 6, 1

(a) 3

(b) 1

(c) 2

(d) 5

उत्तर-(b)

6. किस दिन पर्यटकों की संख्या न्यूनतम है?

(a) शुक्रवार

(b) सोमवार

(c) गुरुवार

(d) शनिवार

उत्तर- (a)

7. एक बैग में 2 लाल, 3 नीली और 5 काली गेंदें हैं। बैग में देखे बिना बैग से एक गेंद खींची जाती है। गैर-लाल गेंद प्राप्त करने की संभावना क्या है?

(a) 4/5

(b) 2/5

(c) 3/5

(d) इनमें से कोई नहीं

उत्तर- (a)

8. एक डाई को घुमाया जाता है, तो उसके ऊपरी चेहरे पर बिंदु की संख्या 5 से कम होने की प्रायिकता क्या है?

(a) 0

(b) 1/3

(c) 2/3

(d) 1

उत्तर- (c)

9. यदि 1 सेमी = 15 छात्र हैं, तो 90 छात्रों के लिए पंक्ति की लंबाई क्या होगी?

(a) 4 सेमी

(b) 6 सेमी

(c) 6 छात्र

(d) 9 सेमी

उत्तर-(b)

10. किस दिन 60 पर्यटक आते हैं?

(a) सोमवार

(b) मंगलवार

(c) शुक्रवार

(d) रविवार

उत्तर- (c)

11. पांच संख्याओं का माध्य 27 है। यदि संख्याओं में से एक को छोड़ दिया जाता है, तो माध्य 2 से कम हो जाता है। बहिष्कृत संख्या क्या है?

(a) 35

(b) 27

(c) 25

(d) 40

उत्तर- (a)

12. कौन सा माप डेटा के एक सेट के केंद्र का वर्णन करता है?

(a) विधि

(b) माध्य

(c) माध्य

(d) ये सभी

उत्तर- (c)

13. यदि 18 प्रेक्षणों का योग 90 है, तो माध्य ज्ञात कीजिए।

(a) 5

(b) 4

(c) 6

(d) 9

उत्तर- (a)

14. शुक्रवार और सोमवार को आने वाले पर्यटकों की संख्या के बीच का अंतर क्या है?

(a) 10

(b) 24

(c) 38

(d) 5

उत्तर- (d)

15. स्रोत से सीधे एकत्र किए गए डेटा को क्या कहा जाता है?

(a) प्राथमिक डेटा

(b) असमूहीकृत डेटा

(c) समूहीकृत डेटा

(d) द्वितीयक आंकड़े

उत्तर- (a)

16. दी गई पाँच संख्याओं का अंकगणितीय माध्य 85 है। उनका योग क्या है?

(a) 425

(b) 85

(c) 85 और 425 के बीच की संख्या।

(d) 500 से अधिक संख्या।

उत्तर- (a)

17. रविवार और शुक्रवार को आने वाले पर्यटकों की संख्या का योग क्या है?

(a) 160

(b) 60

(c) 220

(d) 100

उत्तर- (c)

18. जब 2 पासे घुमाए जाते हैं तो 13 की राशि प्राप्त करने की प्रायिकता क्या होती है?

(a) 13/12

(b) 1/12

(c) 4/12

(d) इनमें से कोई नहीं

उत्तर- (d)

19. 1, 4, 1, 2, 0, 1, 5, 4, 2, 2 का माध्य क्या है?

(a) 0

(b) 1

(c) 2

(d) 4

उत्तर- (c)

20. दो पासे फेंके जाते हैं, ज्ञात कीजिए और परिणामों की संख्या बताइए।

(a) 12

(b) 6

(c) 36

(d) इनमें से कोई नहीं

उत्तर- (c)

21. पर्यटकों की अधिकतम और न्यूनतम संख्या के बीच का अंतर क्या है?

(a) 50

(b) 80

(c) 90

(d) 100

उत्तर- (d)

22. एक बैग में 2 लाल, 3 नीली और 5 काली गेंदें हैं। बैग में देखे बिना बैग से एक गेंद खींची जाती है। काली गेंद मिलने की प्रायिकता क्या है?

(a) 2/5

(b) 3/5

(c) 1/2

(d) इनमें से कोई नहीं

उत्तर- (c)

23. 35, 40, 22, 17, 65, 31, 78, 33 की सीमा क्या है?

(a) 35

(b) 17

(c) 61

(d) 33

उत्तर- (c)

24. कक्षा-अंतराल 70-80 में, 80 क्या है?

(ए) निचली सीमा

(b) ऊपरी सीमा

(c) आवृत्ति

(d) रेंज

उत्तर-(b)

25. एक बल्लेबाज ने छह पारियों में निम्नलिखित रन बनाए:

35, 30, 45, 65, 39, 20

एक पारी में उनके द्वारा बनाए गए औसत रन क्या हैं?

(a) 39

(b) 38

(c) 37

(d) 40

उत्तर- (a)

26. कक्षा में छात्रों का वजन 15, 16, 18, 19, 21, 23, 27, 25 है और छात्र का औसत वजन क्या है?

(a) 18.5

(b) 23.5

(c) 20.5

(d) 21.5

उत्तर- (c)

27. एक सिक्का उछाला जाता है। पूंछ प्राप्त करने की संभावना क्या है?

(a) 1

(b) 1/2

(c) 2

(d) 0

उत्तर-(b)

28. 10, 20, 30 और 40 संख्याओं का माध्य क्या है?

(a) 20

(b) 25

(c) 30

(d) 50

उत्तर-(b)

29. एक मौत फेंक दी जाती है। 6 प्राप्त करने की प्रायिकता क्या है?

(a) 0

(b) 1/6

(c) 1/2

(d) 1

उत्तर- (a)

30. नीचे दी गई कक्षा के छात्रों के वजन की सीमा (किग्रा में) क्या है?

49, 60, 47, 50, 47, 59, 58, 45, 53

(a) 10

(b) 15

(c) 20

(d) 2

उत्तर-(b)

31. 20, 30, 40, 10,15, 25, 35 डेटा का माध्य क्या है?

(a) 20

(b) 25

(c) 30

(d) 40

उत्तर-(b)

32. एक कक्षा के 11 छात्रों के अंक नीचे दिए गए हैं:

78, 11, 99, 63, 94, 6, 78, 36, 30, 55, 22

अंकों की सीमा क्या है?

(a) 90

(b) 91

(c) 92

(d) 93

उत्तर- (d)

33. डेटा की सीमा किसके बराबर है?

(a) उच्चतम मूल्य + निम्नतम मूल्य

(b) उच्चतम मूल्य – निम्नतम मूल्य

(c) उच्चतम मूल्य × निम्नतम मूल्य

(d) उच्चतम मूल्य + निम्नतम मूल्य

उत्तर-(b)

34. एक निश्चित सप्ताह के 7 दिनों में एक शहर में वर्षा (मिमी में) निम्नानुसार दर्ज की गई थी:

Day	Rainfall (in mm)
Monday	0.0
Tuesday	0.0
Wednesday	1.0
Thursday	2.0
Friday	3.0
Saturday	5.0
Sunday	4.0

कितने दिनों में वर्षा 6 मिमी से कम थी?

(a) 0

(b) 3

(c) 6

(d) 7

उत्तर- (d)

35. निम्नलिखित में से कौन सा दिए गए डेटा का माध्य है?

(a) आरोही या अवरोही क्रम में व्यवस्थित डेटा का मध्य मान।

(b) सबसे अधिक बार होने वाले अवलोकन का मूल्य।

(c) डेटा के सभी मानों का योग मानों की कुल संख्या से विभाजित है।

(d) इनमें से कोई नहीं।

उत्तर- (c)

36. वितरण का तरीका 3,5, 7, 4, 2, 1, 4, 3, 4 है

(a) 7

(b) 4

(c) 3

(d) 1

उत्तर-(b)

37. ऊपरी और निचली सीमा के बीच के अंतर को क्या कहा जाता है?

(a) समूह

(b) वर्ग का आकार

(c) कक्षा अंतराल

(d) कक्षा चिह्न

उत्तर-(b)

38. कुछ छात्रों के अंक नीचे दिए गए हैं:

30, 31, 32, 32, 33, 32, 34, 35, 30, 31, 33, 32

उनके अंकों का तरीका ज्ञात कीजिए।

(a) 30

(b) 31

(c) 32

(d) 33

उत्तर- (c)

39. एक प्रक्रिया जिसके परिणामस्वरूप कुछ अच्छी तरह से परिभाषित परिणाम होते हैं, के रूप में जाना जाता है:

(a) परिणाम

(b) घटना

(c) प्रयोग

(d) आवृत्ति

उत्तर- (c)

40. वितरण का माध्य 2, 3, 4, 7, 5, 1, 6 क्या है?

(a) 1

(b) 2

(c) 3

(d) 4

उत्तर- (d)

41. 46,64,87, 41,58,77,35,90,55,33,92 डेटा का औसत क्या है?

(a) 87

(b) 77

(c) 58

(d) 60.2

उत्तर- (c)

42. 20, 30, 40, 10, 15, 25, 35 डेटा का माध्य क्या है?

(a) 20

(b) 25

(c) 30

(d) 40

उत्तर-(b)

43. एक बार चार्ट में, 4 सेमी लंबाई की एक पट्टी खींची जाती है। यदि 1 सेमी = 1.5 लीटर है, तो 4 सेमी क्या होगा?

(a) 3 l

(b) 6 l

(c) 5 लीटर

(d) 9 l

उत्तर-(b)

44. निम्नलिखित में से कौन सा कथन सत्य है?

(a) मोड हमेशा डेटा में संख्याओं में से एक होता है

(b) माध्य हमेशा डेटा में संख्याओं में से एक होता है

(c) डेटा में माध्य < मोड

(d) आंकड़ों में माध्य < मोड

उत्तर- (a)

45. एक कक्षा में 100 छात्रों का औसत वजन 46 किलो है। लड़कों का औसत वजन 50 किलो और लड़कियों का 40 किलो है। इसलिए, लड़कों की संख्या क्या है?

(a) 50

(b) 60

(c) 70

(d) 65

उत्तर-(b)

46. एक सिक्का उछाला जाता है। सिर प्राप्त करने की संभावना क्या है?

(a) 0

(b) 1

(c) 1/2

(d) 2

उत्तर- (c)

47. किसी प्रयोग की प्रायिकता इससे अधिक नहीं हो सकती:

(a) 0

(b) 0.5

(c) 1

(d) 2

उत्तर- (c)

48. एक सिक्का उछाला जाता है। पूंछ प्राप्त करने की संभावना क्या है?

(a) 1

(b) 1/2

(c) 2

(d) 0

उत्तर-(b)

49. किसी डेटा में होने वाले अवलोकन की संख्या को इसका कहा जाता है

(a) रेंज

(b) कच्चा डेटा

(c) अंतराल

(d) आवृत्ति

उत्तर- (d)

50. एक मौत फेंक दी जाती है। 1 प्राप्त करने की प्रायिकता क्या है?

(a) 0

(b) 1

(c) 1/2

(d) 1/6

उत्तर- (d)

51. मान लीजिए कि लूडो के खेल में, खिलाड़ी को सुरक्षित होने के लिए 1, 3, 5 और 6 की आवश्यकता होती है। असुरक्षित होने की संभावना क्या है?

(a) 4/6

(b) 3/6

(c) 2/6

(d) 1

उत्तर- (c)

52. एक मौत फेंक दी जाती है। 6 प्राप्त करने की प्रायिकता क्या है?

(a) 0

(b) 1/6

(c) 1/2

(d) 1

उत्तर-(b)

53. जब एक सिक्का फेंका जाता है, तो संभावित परिणामों की कुल संख्या _____ होती है।

(a) 5

(b) 2

(c) 6

(d) इनमें से कोई नहीं

उत्तर-(b)

Please Share This Share this content

- Opens in a new window



- Opens in a new window

- Opens in a new window

- Opens in a new window

- Opens in a new window

- Opens in a new window

- Opens in a new window

- Opens in a new window

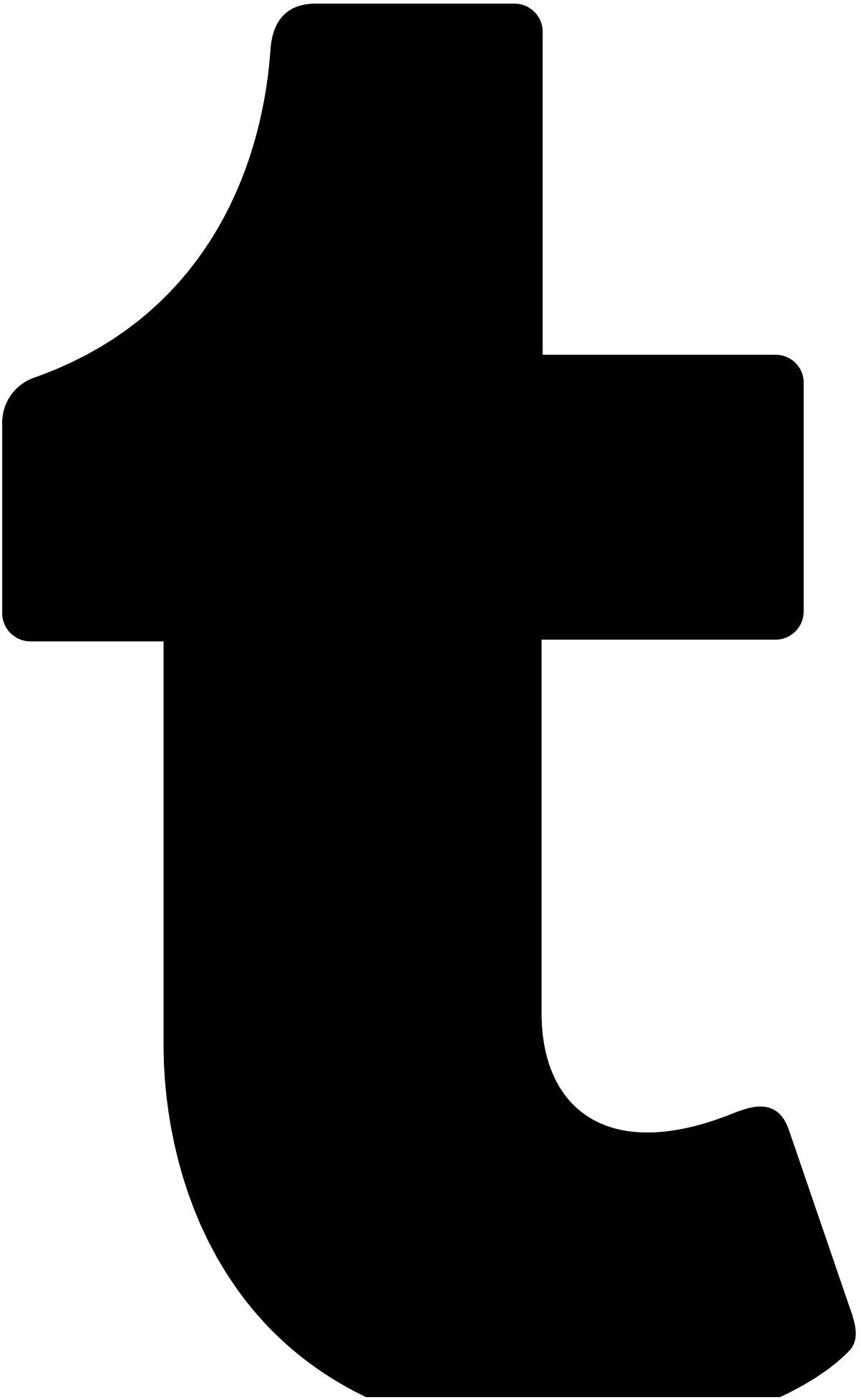

- Opens in a new window



- Opens in a new window

You Might Also Like

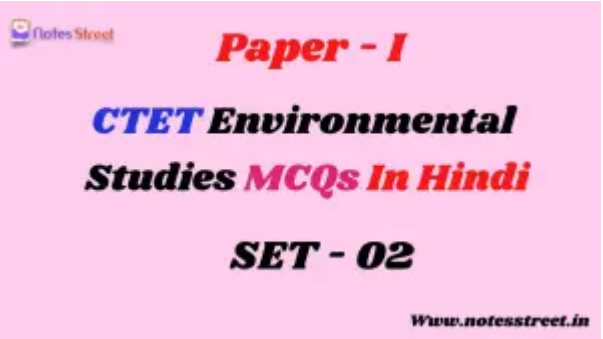

CTET 2022 पर्यावरणीय अध्ययन एवं शिक्षणशास्त्र MCQs In Hindi SET – 02

December 12, 2022

Class 6 Math Important MCQs Chapter – 6 Integers

July 5, 2023

सविनय अवज्ञा आन्दोलन & गांधी-इरविन समझौता

December 4, 2022