Skip to content

- Post category:Uncategorized

Here we are providing **Class 7 Math MCQs** Chapter – 5 रेखा एवं कोण because for Class 7 students as we all know that every board exam question has MCQs so that students should practice these questions so that students can get good marks in board. Class 7 Math MCQs Chapter – 5 रेखा एवं कोण is an extremely important and its also a year in which students learn the fundamentals of concepts that help them lay a solid foundation for their higher education. Here we are providing in Class 7 Math MCQs Chapter – 5 रेखा एवं कोण100+questions so that students practice more and more. If you want class 7 Math Notes Then **Click Here**

Download PDF

1. निम्नलिखित में से कौन सा कथन सत्य है?

(a) दो आसन्न कोण पूरक हो सकते हैं।

(b) दो आसन्न कोण पूरक नहीं हो सकते हैं

(c) एक तीव्र कोण एक तिरछे कोण ों के निकट नहीं हो सकता है।

(d) दो समकोण आसन्न कोण नहीं हो सकते

उत्तर- (क)

2. एक रेखा जो अलग-अलग बिंदुओं पर दो या दो से अधिक रेखाओं को काटती है उसे क्या कहा जाता है?

(a) समानांतर

(b) ट्रांसवर्सल

(c) प्रतिच्छेदन

(d) इनमें से कोई नहीं

उत्तर-(ख)

3. एक रेखीय जोड़ी में कोण क्या हैं?

(a) पूरक

(b) अनुपूरक

(c) आसन्न कोण नहीं

(d) लंबवत विपरीत कोण

उत्तर-(ख)

4. जब दो कोणों के मापों का योग 90° होता है, तो कोणों को क्या कहा जाता है?

(a) अनुपूरक कोण

(बी) पूरक कोण

(c) आसन्न कोण

(d) लंबवत विपरीत कोण

उत्तर-(ख)

5. निम्नलिखित में से कौन सा कथन सत्य है?

(a) दो तीव्र कोण एक रैखिक जोड़ी बना सकते हैं।

(b) दो तिरछे कोण एक रैखिक जोड़ी बना सकते हैं

(c) दो समकोण एक रेखीय जोड़ी बना सकते हैं

(d) एक तिरछा कोण और एक तीव्र कोण एक रैखिक जोड़ी नहीं बना सकते हैं

उत्तर- (ग)

6. भुजाओं के विस्तार के बाद किसी कोण के माप का क्या होता है?

(a) युगल

(b) तिगुनी

(c) वही रहता है

(d) नहीं कहा जा सकता

उत्तर- (ग)

7. दो पूरक कोणों के मापों का योग क्या है?

(a) 180°

(b) 60°

(c) 45°

(d) 90°

उत्तर- (घ)

8. यदि एक ट्रांसवर्सल दो समानांतर रेखाओं को प्रतिच्छेद करता है तो ट्रांसवर्सल के एक ही तरफ आंतरिक कोण क्या हैं?

(a) लंबवत विपरीत कोण

(b) अनुपूरक कोण

(c) पूरक कोण

(d) वैकल्पिक कोण

उत्तर-(ख)

9. निम्नलिखित में से कौन सा कथन असत्य है?

(a) दो लंबवत विपरीत कोण तीव्र हो सकते हैं

(b) दो लंबवत विपरीत कोण ों को तिरछा किया जा सकता है

(c) दो लंबवत विपरीत कोण समकोण हो सकते हैं

(d) दो लंबवत विपरीत कोण असमान हो सकते हैं

उत्तर- (घ)

10. (180°, 5°) कोण की जोड़ी दी गई है:

(a) पूरक

(b) अनुपूरक

(c) इनमें से कोई नहीं

उत्तर- (ग)

11. उस कोण का पता लगाएं, जो इसके पूरक के बराबर है।

(a) 60°

(b) 90°

(c) 120°

(d) 30°

उत्तर-(ख)

12. कोण 30° के पूरक का माप क्या है?

(3) 30°

(b) 16°

(c) 60°

(d) 160°

उत्तर- (ग)

13. 105 ° का पूरक क्या है

(a) 65°

(b) 75°

(c) 85°

(d) 95°

उत्तर-(ख)

14. ऊपर दिए गए प्रश्न 32 का चित्र देखें। कोणों की कौन सी जोड़ी वैकल्पिक आंतरिक कोण हैं?

(a) (1, 5)

(b) (b) 2, 6

(c) 3, 7

(d) 3, 5

उत्तर- (घ)

15. यदि दो रेखाएं एक बिंदु पर प्रतिच्छेद करती हैं, तो लंबवत विपरीत कोण हमेशा ____ होते हैं।

(a) अनुपूरक

(b) बराबर

(c) असमान

(d) इनमें से कोई नहीं

उत्तर-(ख)

16. पहचानिए कि निम्नलिखित कोणों के कौन से जोड़े पूरक हैं।

(a) 45°, 45°

(b) 63°, 27°

(c) 112°, 68°

(d) 80°, 10°

उत्तर- (ग)

17. निम्नलिखित में से कौन सा कथन सत्य है?

(a) दो तीव्र कोण एक दूसरे के पूरक हो सकते हैं

(b) दो तिरछे कोण एक-दूसरे के पूरक हो सकते हैं

(c) दो समकोण एक दूसरे के पूरक हो सकते हैं

(d) एक तिरछा कोण और एक तीव्र कोण एक दूसरे के पूरक हो सकते हैं

उत्तर- (क)

18. हम उस कोण को क्या कहते हैं जिसका माप 0° के ठीक बराबर है?

(a) एक तिरछा कोण

(b) एक सीधा कोण

(c) एक शून्य कोण

(d) एक समकोण

उत्तर- (ग)

19. उस कोण का माप ज्ञात कीजिये जो इसके पूरक कोण का आधा है?

(a) 60°

(b) 120°

(c) 90°

(d) 45°

उत्तर- (क)

20. हम उस कोण को क्या कहते हैं जिसका माप 0o के ठीक बराबर है?

(a) एक तिरछा कोण

(b) एक सीधा कोण

(c) एक शून्य कोण

(d) एक समकोण

उत्तर- (ग)

21. निम्नलिखित आरेख में, यदि ⇒ 1 + × 2 = 100° है, तो त्रिभुज 4 का माप क्या है?

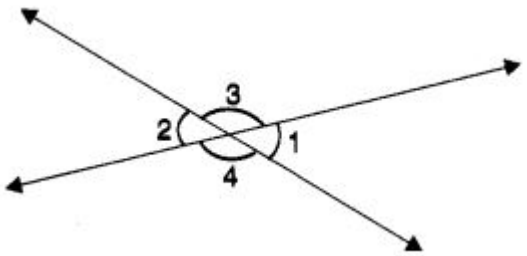

(a) 50°

(b) 100°

(c) 80°

(d) 130°

उत्तर- (घ)

22. कोण 46° के पूरक का माप क्या है?

(a) 90°

(b) 44°

(c) 16°

(d) 136°

उत्तर-(ख)

23. पहचानिए कि निम्नलिखित में से कौन सा कोण एक-दूसरे का पूरक है।

(a) 65°, 115°

(b) 130°, 50°

(c) 63°, 27°

(d) 112°, 68°

उत्तर- (ग)

24. कोण 80° के पूरक का माप क्या है?

(a) 10°

(ब) 100°

(c) 36°

(d) 20°

उत्तर- (क)

25. निम्नलिखित आरेख में, ⇒ 1 + × 2 + × 3 = 230° है, तो ‘ 4 का माप क्या है?

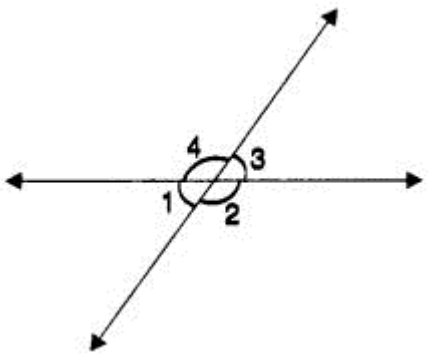

(a) 130°

(b) 80°

(c) 65°

(d) 90°

उत्तर- (क)

26. यदि दो रेखाएं एक बिंदु पर प्रतिच्छेद करती हैं, तो लंबवत विपरीत कोण हमेशा _____ होते हैं

(a) अनुपूरक

(b) बराबर

(c) असमान

(d) इनमें से कोई नहीं

उत्तर-(ख)

27. उस कोण का माप क्या है जो इसके पूरक के बराबर है?

(a) 30°

(b) 60°

(c) 46°

(d) 90°

उत्तर- (ग)

28. दिए गए चित्र में x का मान क्या है?

(a) 55°

(b) 45°

(c) 65°

(d) इनमें से कोई नहीं

उत्तर- (क)

29. वे कौन सी रेखाएं हैं जो एक ही तल पर स्थित हैं और किसी भी बिंदु पर प्रतिच्छेद नहीं करती हैं?

(a) लम्बवत रेखाएँ

(b) प्रतिच्छेदन रेखाएँ

(c) समानांतर रेखाएँ

(d) समरेख रेखाएँ

उत्तर- (ग)

30. निम्नलिखित में से कोणों का कौन सा जोड़ा पूरक कोणों की जोड़ी नहीं है?

(a) 60°, 30°

(b) 66°, 34°

(c) 0°, 90°

(d) 160°, 30°

उत्तर- (घ)

31. यदि दो कोण पूरक हैं तो उनके मापों का योग ____ है।

(a) 45°

(ब) 180°

(c) 90°

(d) 360°

उत्तर-(ख)

32. कोण 90° के पूरक का माप क्या है?

(o) 90°

(b) 0°

(c) 180°

(d) 46°

उत्तर-(ख)

33. 100° के पूरक का माप:

(a) 70°

(b) 75°

(c) 80°

(d) इनमें से कोई नहीं

उत्तर- (ग)

34. कोण 40° के पूरक का माप क्या है?

(a) 15°

(b) 40°

(c) 50°

(d) 140°

उत्तर- (ग)

35. वह कोण ज्ञात कीजिए, जो उसके पूरक के बराबर है।

(a) 45°

(b) 25°

(c) 35°

(d) 30°

उत्तर- (क)

36. जब दो कोणों के मापों का योग 180° होता है, तो कोणों को क्या कहा जाता है?

(a) आसन्न कोण

(बी) पूरक कोण

(c) लंबवत विपरीत कोण

(d) अनुपूरक कोण

उत्तर- (घ)

37. यदि दो आसन्न कोण पूरक हैं, तो वे _____ बनाते हैं।

(a) कोणों की एक रैखिक जोड़ी

(b) लंबवत विपरीत कोण

(c) तदनुरूपी कोण

(d) एक किरण

उत्तर- (क)

38. दो पूरक कोणों के मापों का योग क्या है?

(a) 90°

(ब) 180°

(c) 360°

(d) इनमें से कोई नहीं

उत्तर-(ख)

39. 65° के पूरक का माप क्या है?

(a) 25°

(b) 55°

(c) 65°

(d) 45°

उत्तर- (क)

40. कोण 120° के पूरक का माप क्या है?

(a) 30°

(b) 45°

(c) 60°

(d) 90°

उत्तर- (ग)

41. 41° के पूरक का माप क्या है?

(a) 135°

(b) 15°

(c) 49°

(d) इनमें से कोई नहीं

उत्तर- (ग)

42. 0° कोण का पूरक क्या है?

(a) 90°

(ब) 95°

(c) 75°

(d) इनमें से कोई नहीं

उत्तर- (क)

43. निम्नलिखित में से कौन सा कथन सत्य है?

(a) दो तीव्र कोण अनुपूरक हो सकते हैं।

(b) दो समकोण अनुपूरक हो सकते हैं।

(c) दो तिरछे कोण अनुपूरक हो सकते हैं।

(d) एक तिरछा कोण और एक तीव्र कोण पूरक नहीं हो सकता है

उत्तर-(ख)

44. कोणों को मापने या बनाने के लिए किस उपकरण का उपयोग किया जाता है?

(a) कम्पास

(b) पैमाना

(c) प्रोट्रैक्टर

(d) वर्ग सेट करें

उत्तर- (ग)

45. पहचानिए कि निम्नलिखित में से कौन से कोण ों के जोड़े पूरक हैं।

(a) 65°, 115°

(b) 130°, 50°

(c) 63°, 27°

(d) 112°, 68°

उत्तर- (ग)

46. कोण 90° के पूरक का माप क्या है?

(a) 45°

(b) 60°

(c) 30°

(d) 90°

उत्तर- (घ)

47. एक बिंदु के चारों ओर सभी कोणों का योग क्या है?

(a) 0 डिग्री

(ब) 180 डिग्री

(c) 360 डिग्री

(d) 90 डिग्री

उत्तर- (ग)

48. उस कोण का माप क्या है जो इसके पूरक के बराबर है?

(a) 30°

(b) 45°

(c) 90°

(d) 60°

उत्तर- (ग)

49. दिए गए बिंदु से कितनी किरणें खींची जा सकती हैं?

(a) 2

(b) 5

(c) 8

(d) असीम रूप से कई

उत्तर- (घ)

50. निम्नलिखित में से कोणों का कौन सा जोड़ा पूरक कोणों की जोड़ी नहीं है?

(a) 90°, 90°

(b) 32°, 58°

(c) 0°, 180°

(d) 76°, 104°

उत्तर-(ख)

51. हम उस कोण को क्या कहते हैं जो वास्तव में 90° मापता है?

(a) एक तिरछा कोण

(b) एक तीव्र कोण

(c) एक समकोण

(d) एक प्रतिवर्ती कोण

उत्तर- (ग)

52. कोण 0° के पूरक का माप क्या है?

(a) 45°

(b) 90°

(c) 120°

(d) 180°

उत्तर- (घ)

53. पहचानिए कि निम्नलिखित कोणों के कौन से जोड़े पूरक हैं।

(a) 45°, 45°

(b) 63°, 27°

(c) 112°, 68°

(d) 80°, 10°

उत्तर- (ग)

54. कोण 179° के पूरक का माप क्या है?

(a) 1°

(b) 2°

(c) 3°

(d) 4°

उत्तर- (क)

Please Share This Share this content

- Opens in a new window



- Opens in a new window

- Opens in a new window

- Opens in a new window

- Opens in a new window

- Opens in a new window

- Opens in a new window

- Opens in a new window

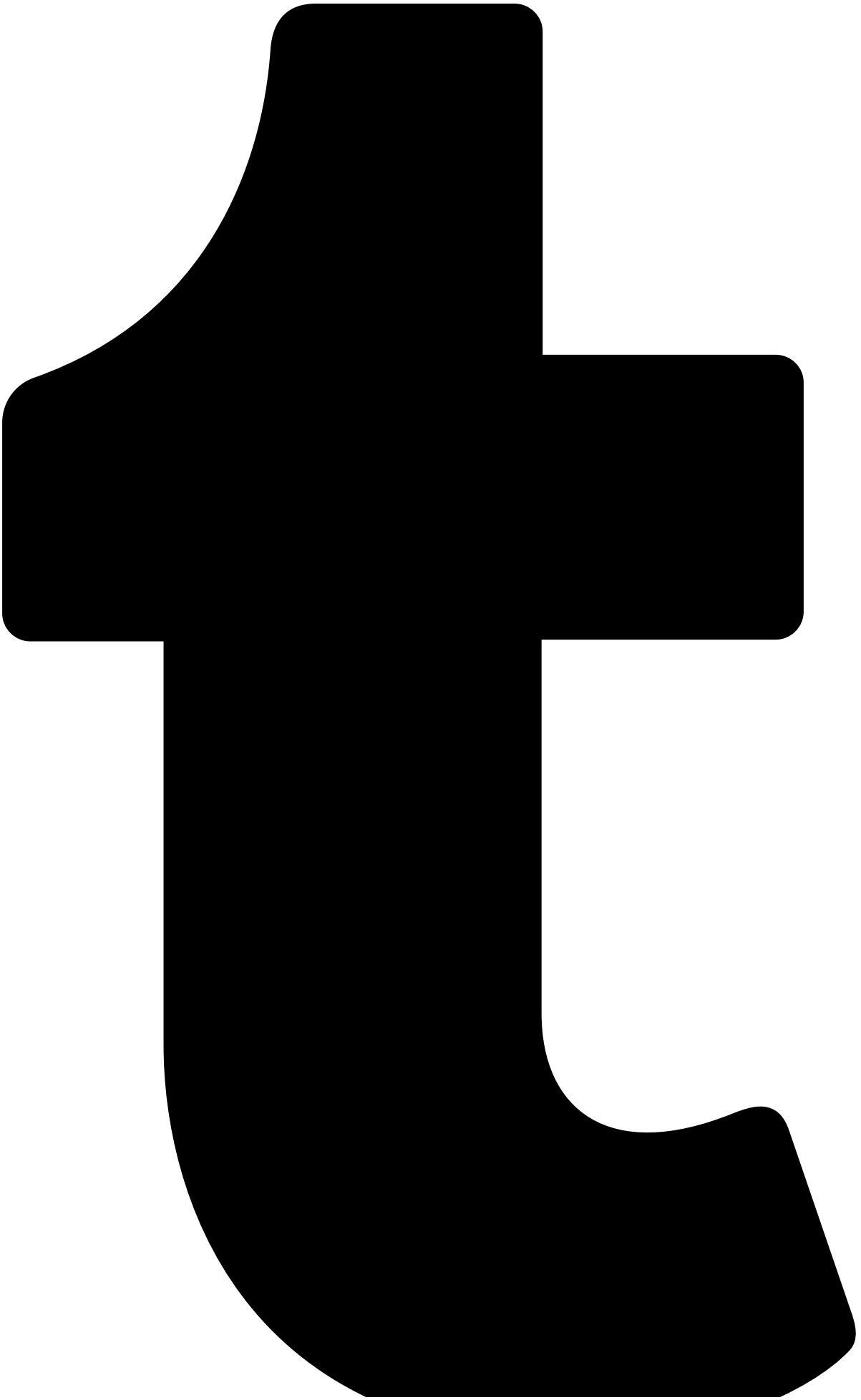

- Opens in a new window



- Opens in a new window

You Might Also Like

CTET बाल विकास और शिक्षाशास्त्र MCQs SET – 07

December 9, 2022

Class 8 Social Science Civics NCERT Solutions in English Chapter – 07 Marginalization

May 8, 2023

Class 11 Physics Notes Chapter – 15 तरंगे

September 10, 2023