Skip to content

- Post category:Uncategorized

Here we are providing **Class 7 Math MCQs** Chapter – 8 राशियों की तुलना because for Class 7 students as we all know that every board exam question has MCQs so that students should practice these questions so that students can get good marks in board. Class 7 Math MCQs Chapter – 8 राशियों की तुलना is an extremely important and its also a year in which students learn the fundamentals of concepts that help them lay a solid foundation for their higher education. Here we are providing in Class 7 Math MCQs Chapter – 8 राशियों की तुलना 100+questions so that students practice more and more. If you want class 7 Math Notes Then **Click Here**

Download PDF

1. 100 मतदाता हैं। इनमें से 50 ने हां में वोट दिया। कितने प्रतिशत लोगों ने हां में मतदान किया?

(a) 10%

(b) 25%

(c) 50%

(d) 15%

उत्तर- (c)

2. 10 रुपये से 50 पैसे का अनुपात क्या है?

(a) 20 : 1

(b) 10 : 1

(c) 5 : 1

(d) 1 : 20

उत्तर- (a)

3. यदि एक कक्षा में 40% छात्र हिंदू हैं, तो कितने प्रतिशत छात्र गैर-हिंदू हैं?

(a) 40%

(b) 10%

(c) 50%

(d) 60%

उत्तर- (d)

4. 6 किलो से 400 ग्राम का अनुपात क्या है?

(a) 10 : 1

(b) 15 : 1

(c) 12 : 1

(d) 6 : 1

उत्तर-(b)

5. एक टोकरी केले, आम और सेब से भरी हुई है। यदि 50% आम हैं, 30% सेब हैं, तो केले कितने प्रतिशत हैं?

(a) 10%

(b) 20%

(c) 25%

(d) 40%

उत्तर-(b)

6. 3 मीटर से 60 सेमी का अनुपात क्या है?

(a) 4 : 1

(b) 3 : 1

(c) 5 : 1

(d) 2 : 1

उत्तर- (c)

7. 40 बच्चों के एक सर्वेक्षण से पता चला है कि 25% फुटबॉल खेलना पसंद करते हैं। कितने बच्चों को फुटबॉल खेलना पसंद नहीं है?

(a) 10

(b) 30

(c) 5

(d) 20

उत्तर-(b)

8. 200 का 5% क्या है?

(a) 2

(b) 5

(c) 10

(d) 100

उत्तर- (c)

9. 15 दिनों से 72 घंटों का अनुपात क्या है?

(a) 2 : 1

(b) 3 : 1

(c) 4 : 1

(d) 5 : 1

उत्तर- (d)

10. एक कक्षा में 40 बच्चे हैं| 25% फुटबॉल खेलना पसंद करते हैं| कितने बच्चे फुटबॉल खेलना पसंद करते हैं?

(a) 10

(b) 20

(c) 30

(d) 40

उत्तर- (a)

11. 90 सेमी से 1.5 मीटर का अनुपात क्या है?

(a) यह 5:3 है

(b) यह 3:2 है।

(c) यह 3:5 है

(d) इनमें से कोई नहीं

उत्तर- (c)

12. एक वस्तु को 50 रुपये में बेचने पर एक दुकानदार को 12 रुपये का लाभ होता है. उसका लाभ प्रतिशत क्या है?

(a) 12%

(b) 24%

(c) 31.6%

(d) 50%

उत्तर- (c)

13. मनीष का वेतन ₹4000 है। वह अपने वेतन का 10% बचाता है। वह कितना बचाता है?

(a) ₹ 400

(b) ₹ 2000

(c) ₹ 3000

(d) ₹ 4000

उत्तर- (a)

14. 0.09 प्रतिशत को प्रतिशत में बदलें।

(a) 9%

(b) 8%

(c) 10%

(d) इनमें से कोई नहीं

उत्तर- (a)

15. पिता और पुत्र की आयु 45 वर्ष और 10 वर्ष है। उनकी आयु का अनुपात क्या है?

(a) 3 : 2

(b) 5 : 2

(c) 9 : 2

(d) 15 : 2

उत्तर- (c)

16. एक कक्षा में, 15 लड़कियां और 25 लड़के हैं, कक्षा में लड़कों का प्रतिशत क्या है?

(a) 37.5%

(b) 62.5%

(c) 800/3%

(d) 160%

उत्तर-(b)

17. 0.2 को प्रतिशत में बदलें।

(a) 200%

(b) 2%

(c) 20%

(d) इनमें से कोई नहीं

उत्तर- (c)

18. 100 रुपये पर एक वर्ष के लिए 10% प्रति वर्ष की दर से ब्याज क्या है?

(a) 1 रुपये

(b) 10 रुपये

(c) 90 रुपये

(d) 100 रुपये

उत्तर-(b)

19. आस-पास की आकृति का कितना प्रतिशत छायांकित है?

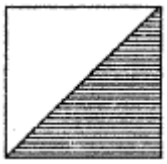

(a) 50%

(b) 40%

(c) 100%

(d) इनमें से कोई नहीं

उत्तर- (a)

20. 3 किमी से 300 मीटर का अनुपात ज्ञात कीजिए।

(a) यह 10:1 है

(b) यह 1:5 है

(c) यह 1:10 है

(d) इनमें से कोई नहीं

उत्तर- (a)

21. 3 लिफाफों की कीमत ₹ 15 है। 5 लिफाफों का मूल्य ज्ञात कीजिए।

(a) ₹ 20

(b) ₹ 25

(c) ₹ 30

(d) ₹ 40

उत्तर-(b)

22. दी गई भिन्नात्मक संख्याओं को 1/8 प्रतिशत में परिवर्तित करें।

(a) 12.5%

(b) 13.5%

(c) 14.5%

(d) इनमें से कोई नहीं

उत्तर- (a)

23. यदि 10 एक संख्या का 10% है, तो संख्या क्या है?

(a) 10

(b) 100

(c) 1

(d) 1000

उत्तर-(b)

24. एक यात्री अपनी कुल यात्रा का 8% तय करता है जो 50 किमी लंबी है। उसने पैदल कितने किलोमीटर की दूरी तय की?

(a) 1 किमी

(b) 2 किमी

(c) 3 किमी

(d) 4 किमी

उत्तर- (d)

25. 32 छात्रों में से 8 अनुपस्थित हैं। कितने प्रतिशत छात्र उपस्थित हैं?

(a) 50%

(b) 10%

(c) 25%

(d) 75%

उत्तर- (d)

26. दिए गए दशमलव अंशों को प्रतिशत में परिवर्तित करें

(a) 6.5%

(b) 0.065%

(c) 65%

(d) इनमें से कोई नहीं

उत्तर- (c)

27. 7 किलो आलू की कीमत ₹ 42 है। ₹ 96 में कितने किलो आलू खरीदा जा सकता है?

(a) 10 किग्रा

(b) 12 किग्रा

(c) 15 किग्रा

(d) 16 किग्रा

उत्तर- (d)

28. 4 मीटर कपड़े की कीमत 140 रुपये है। 9 मीटर कपड़े की कीमत ज्ञात कीजिए।

(a) 215 रुपये

(b) 300 रुपये

(c) 320 रुपये

(d) 315 रुपये

उत्तर- (d)

29. एक खास तरह की दालों में प्रोटीन की मात्रा 25% होती है। उस दाल के 4 किलो में कितना प्रोटीन होता है?

(a) 1 किग्रा

(b) 2 किग्रा

(c) 3 किग्रा

(d) 4 किग्रा

उत्तर- (a)

30. दो मात्राओं की तुलना करने के लिए इकाइयों का होना आवश्यक है:

(a) वही

(b) अलग

(c) इनमें से कोई नहीं

उत्तर- (a)

31. 15 किग्रा से 210 ग्राम का अनुपात ज्ञात कीजिये

(a) 750:11

(b) 500:7

(c) 7:500

(d) 9:250

उत्तर-(b)

32. 20 दिनों से 72 घंटों का अनुपात क्या है?

(a) 2 : 1

(b) 3 : 20

(c) 4 : 5

(d) 20 : 3

उत्तर- (d)

33. 5 रुपये से 50 पैसे का अनुपात ज्ञात कीजिए।

(a) 10 : 1

(b) 100 : 1

(c) 1:1

(d) इनमें से कोई नहीं

उत्तर- (a)

34. एक वस्तु ₹100 में खरीदी गई और ₹120 में बेची गई. लाभ क्या है?

(a) ₹ 20

(b) ₹ 100

(c) ₹ 120

(d) इनमें से कोई नहीं

उत्तर- (a)

35. 15 किग्रा का अनुपात ज्ञात कीजिए। 210 ग्राम तक।

(a) 50 : 7

(b) 5 : 7

(c) 500 : 7

(d) इनमें से कोई नहीं

उत्तर- (c)

36. 4 मीटर कपड़े की लागत 40 रुपये है। 9 मीटर कपड़े की कीमत ज्ञात कीजिए।

(a) ₹ 90

(b) ₹ 60

(c) ₹ 50

(d) ₹ 40

उत्तर- (a)

37. 4 मीटर से 80 सेमी का अनुपात क्या है?

(a) 4 : 1

(b) 3 : 1

(c) 5 : 1

(d) 2 : 1

उत्तर- (c)

38. 0.75 प्रतिशत को प्रतिशत में बदलें।

(a) 75%

(b) 65%

(c) 55%

(d) इनमें से कोई नहीं

उत्तर- (a)

39. 1/8 को प्रतिशत में परिवर्तित करें

(a) 125%

(b) 12.5%

(c) 7.5%

(d) 28%

उत्तर-(b)

40. एक घड़ी ₹316 में खरीदी गई और ₹300 में बेची गई। नुकसान क्या है?

(a) ₹ 16

(b) ₹ 8

(c) ₹ 24

(d) ₹ 32

उत्तर- (a)

41. 8 पेंसिल की कीमत ₹ 10 है। 20 पेंसिल ों का मूल्य ज्ञात कीजिए।

(a) ₹ 20

(b) ₹ 25

(c) ₹ 24

(d) ₹ 30

उत्तर-(b)

42. राहुल ने एक स्वेटर खरीदा और 25% की छूट दिए जाने पर 20 रुपये बचाए। छूट से पहले स्वेटर की कीमत क्या थी?

(a) 80 रुपये

(b) 40 रुपये

(c) 60 रुपये

(d) 100 रुपये

उत्तर- (a)

43. ₹ 2500 की राशि पर 4 वर्षों के लिए 4% की ब्याज दर पर ब्याज क्या है?

(a) ₹ 100

(b) ₹ 200

(c) ₹ 300

(d) ₹ 400

उत्तर- (d)

44. एक मोटरसाइकिल 3 लीटर पेट्रोल में 120 किमी चलती है। 600 किमी जाने के लिए कितने पेट्रोल की आवश्यकता होगी?

(a) 10 लीटर

(b) 12 l

(c) 15 लीटर

(d) 20 लीटर

उत्तर- (c)

45. मेरे पास जो कार है वह 25 लीटर पेट्रोल के साथ 150 किमी जा सकती है। 30 लीटर पेट्रोल के साथ यह कितनी दूर जा सकती है?

(a) 180 किमी

(b) 200 किमी

(c) 210 किमी

(d) इनमें से कोई नहीं

उत्तर- (a)

46. 1/4 प्रतिशत के अनुसार क्या है?

(a) 20%

(b) 25%

(c) 30%

(d) 12 12%

उत्तर-(b)

47. सरलतम रूप में अंशों का 5% क्या होगा?

(a) 1/30

(b) 1/10

(c) 2/15

(d) 1/20

उत्तर- (d)

48. 1/8 प्रतिशत के अनुसार क्या है?

(a) 25%

(b) 121%

(c) 20%

(d) 16%

उत्तर-(b)

49. सातवीं कक्षा के लिए एक स्कूल में पिकनिक की योजना बनाई जा रही है। लड़कियों की कुल संख्या का 60% है और संख्या में 18 हैं। कक्षा में लड़कियों की संख्या और लड़कों की संख्या का अनुपात क्या है?

(a) यह 2:3 है

(b) यह 3:1 है।

(c) यह 3: 2 है

(d) इनमें से कोई नहीं

उत्तर- (c)

50. 5/2 प्रतिशत के अनुसार क्या है?

(a) 125%

(b) 150%

(c) 200%

(d) 250%

उत्तर- (d)

51. सबसे बड़ा कौन सा है?

(a) −5/11

(b) 5/-12

(c) -5/17

(d) -5/13

उत्तर- (c)

52. 0.1 प्रतिशत के अनुसार क्या है?

(a) 1%

(b) 10%

(c) 100%

(d) 0.1%

उत्तर-(b)

53. 15 किमी प्रति घंटा की साइकिल की गति और 30 किमी प्रति घंटे स्कूटर की गति का अनुपात ज्ञात कीजिए।

(a) यह 2: 1 है

(b) यह 1:3 है

(c) यह 1: 2 है

(d) यह 3:1 है

उत्तर- (c)

54. 0.04 प्रतिशत के अनुसार क्या है?

(a) 10%

(b) 20%

(c) 25%

(d) 4%

उत्तर- (d)

55. एक स्कूल टीम ने पिछले साल जीते गए 4 खेलों के मुकाबले इस साल 6 गेम जीते। प्रतिशत वृद्धि क्या है?

(a) 10%

(b) 25%

(c) 75%

(d) 50%

उत्तर- (d)

56. 2/2 प्रतिशत के अनुसार क्या है?

(a) 19%

(b) 10%

(c) 100%

(d) इनमें से कोई नहीं

उत्तर- (c)

57. किस प्रकार की संख्या –3/0 है?

(ए) एक सकारात्मक तर्कसंगत संख्या।

(b) एक नकारात्मक तर्कसंगत संख्या।

(c) या तो एक सकारात्मक या एक नकारात्मक तर्कसंगत संख्या।

(d) न तो एक सकारात्मक और न ही एक नकारात्मक तर्कसंगत संख्या।

उत्तर- (d)

58. एक कक्षा में 40 बच्चों में से 10 लड़के हैं। लड़कों का प्रतिशत क्या है?

(a) 10%

(b) 40%

(c) 4%

(d) 25%

उत्तर- (d)

59. 25 रेडियो हैं, उनमें से 16 खराब हैं। कितने प्रतिशत रेडियो खराब हैं?

(a) 64%

(b) 75%

(c) 50%

(d) इनमें से कोई नहीं

उत्तर- (a)

60. 25 छात्रों में से 5 अनुपस्थित हैं। कितने प्रतिशत छात्र अनुपस्थित हैं?

(a) 10%

(b) 20%

(c) 25%

(d) 30%

उत्तर-(b)

61. 5/9,1/9 और 11/9 की सबसे बड़ी और न्यूनतम संख्याओं के बीच का अंतर क्या है?

(a) 2/9

(b) 4/9

(c) 10/9

(d) 2/3

उत्तर- (c)

62. एक दुकान में 50 टेलीविजन हैं, जिनमें से 5 दोषपूर्ण हैं? कितने प्रतिशत हैं?

(a) 5%

(b) 10%

(c) 50%

(d) 25%

उत्तर-(b)

Please Share This Share this content

- Opens in a new window



- Opens in a new window

- Opens in a new window

- Opens in a new window

- Opens in a new window

- Opens in a new window

- Opens in a new window

- Opens in a new window

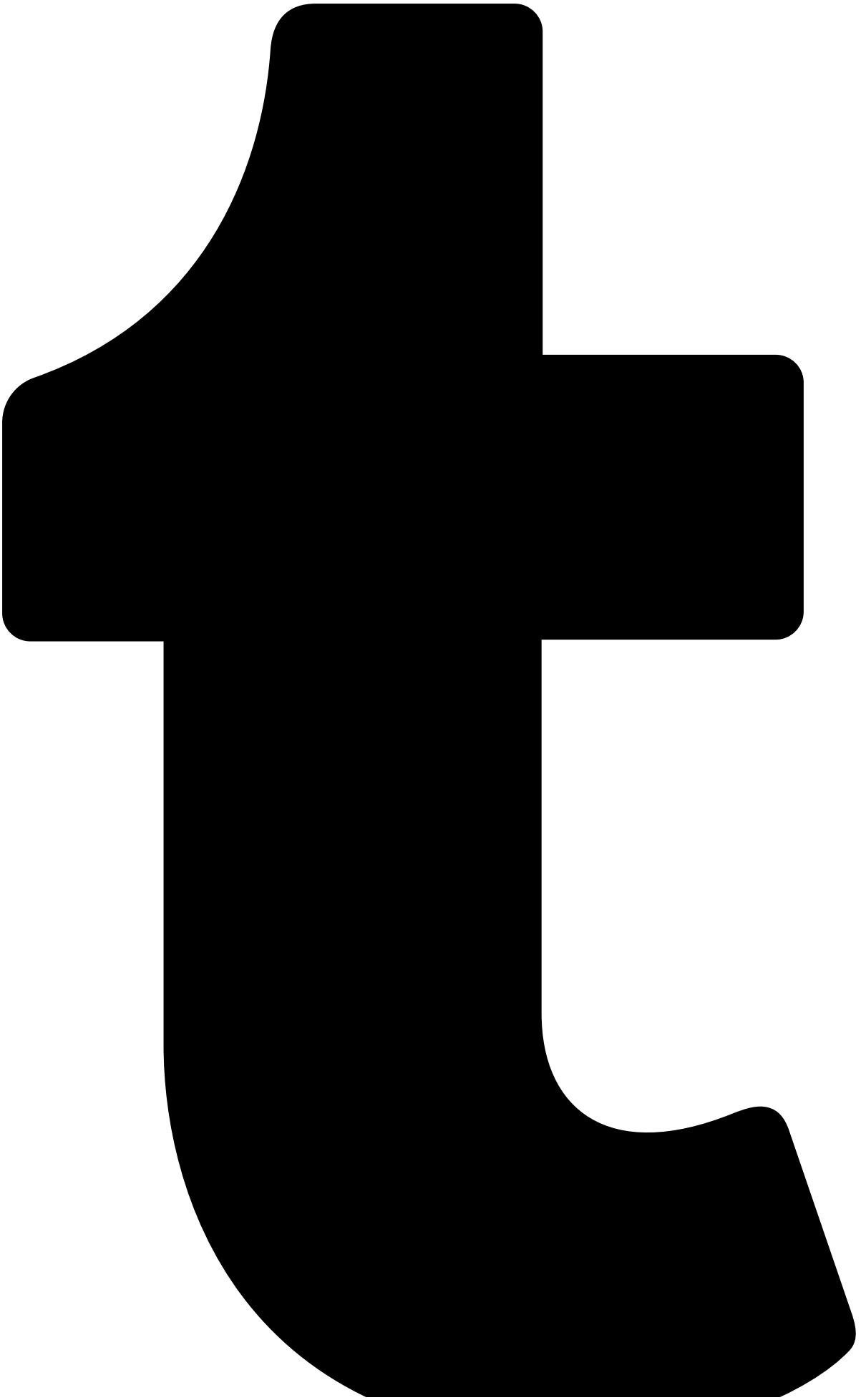

- Opens in a new window



- Opens in a new window

You Might Also Like

NCERT Class 10 Math Subjective Chapter – 8 त्रिकोणमिति का परिचय

September 22, 2022

Class 10 SST Economics Notes Ch- 02 भारतीय अर्थव्यवस्था के क्षेत्रक

August 12, 2023

Class 7 Math Important MCQs Chapter – 07 The Triangle and its Properties

July 19, 2023