Skip to content

- Post category:Uncategorized

Here we are providing **Class 7 Math MCQs** Chapter – 09 परिमेय संख्याएँ because for Class 7 students as we all know that every board exam question has MCQs so that students should practice these questions so that students can get good marks in board. Class 7 Math MCQs Chapter – 09 परिमेय संख्याएँ is an extremely important and its also a year in which students learn the fundamentals of concepts that help them lay a solid foundation for their higher education. Here we are providing in Class 7 Math MCQs Chapter – 09 परिमेय संख्याएँ 100+questions so that students practice more and more. If you want class 7 Math Notes Then **Click Here**

Download PDF

Class 7 Math Important MCQs Chapter – 09 परिमेय संख्याएँ

---

1. यदि 4/3 = x/12 है तो x = ……

(a) 3

(b) 16

(c) 19

(d) 12

उत्तर-(b)

2. सबसे सरल रूप में –44/72 को फिर से लिखें।

(a) -18/11

(b) -11/18

(c) -11/19

(d) -11/20

उत्तर- (c)

3. मानक रूप में परिमेय संख्या -21/28 क्या है?

(a) -3/4

(b) 3/4

(c) 3/7

(d) -3/7

उत्तर- (a)

4. परिमेय संख्या 3/5 का प्रगणक क्या है?

(a) 3

(b) 5

(c) 2

(d) 8

उत्तर- (a)

5. निम्नलिखित में से कौन सी तर्कसंगत संख्या 3/5 के बराबर नहीं है?

(a) 6/10

(b) –3/-5

(c) 9/15

(d) 12/24

उत्तर- (d)

6. – 5 का व्युत्क्रम _____ है

(a) 5

(b) -5

(c) -1/5

(d) इनमें से कोई नहीं

उत्तर- (c)

7. 5/4 + (−25)/4 का योग = ……..

(a) -5

(b) 5

(c) 4

(d) -4

उत्तर- (a)

8. परिमेय संख्या 1/100 का प्रगणक क्या है?

(a) 100

(b) 1

(c) 10

(d) 99

उत्तर-(b)

9. दो संख्याओं का गुणनफल -20/9 है। यदि संख्याओं में से एक संख्या 4 है, तो दूसरी संख्या ज्ञात कीजिए।

(a) –5/9

(b) 3/11

(c) 12/39

(d) –9/11

उत्तर- (a)

10. निम्नलिखित में से कौन सी एक तर्कसंगत संख्या नहीं हो सकती है?

(a) 0/5

(b) 0/-5

(c) 5/0

(d) -1

उत्तर- (c)

11. परिमेय संख्या 4/7 का भाजक क्या है?

(a) 7

(b) 4

(c) 3

(d) 11

उत्तर- (a)

12. वह परिमेय संख्या लिखिए जिसका प्रगणक $4 \times (-7)$ है और भाजक $(3-7) \times (15 - 11)$ है।

(a) 16/28

(b) 8/13

(c) 13/8

(d) 28/16

उत्तर- (d)

13. तर्कसंगत संख्या 7/13 का भाजक क्या है?

(a) 13

(b) 7

(c) 6

(d) 91

उत्तर- (a)

14. एक ऋणात्मक परिमेय संख्या का व्युत्क्रम क्या है?

(a) हमेशा सकारात्मक

(b) हमेशा नकारात्मक

(c) हमेशा 1

(d) हमेशा 0.

उत्तर-(b)

15. निम्नलिखित में से कौन सा जोड़ा समान तर्कसंगत संख्या का प्रतिनिधित्व करता है?

(a) –7/21 और 1/3

(b) 1/3 और -1/9

(c) –5/-9 और 5/-9

(d) 8/-5 और -24/15

उत्तर- (d)

16. परिमेय संख्या -3/4 का प्रगणक क्या है?

(a) -3

(b) 3

(c) 4

(d) -4

उत्तर- (a)

17. यदि p/q और r/s समतुल्य अंश हैं, तो हमारे पास

(a) p + s = q + r

(b) p ÷ s = q ÷ s

(c) PQ = रुपये

(d) ps = rq

उत्तर- (d)

18. निम्नलिखित में से कौन सी एक तर्कसंगत संख्या नहीं है?

(ए) -2/9

(b) 4/-7

(c) −3/-17

(d) √2/3

उत्तर- (d)

19. परिमेय संख्या -2/9 का प्रगणक क्या है?

(a) -2

(b) 2

(c) -9

(d) 9

उत्तर- (a)

20. एक परिमेय संख्या एक संख्या है जिसे p/q के रूप में रखा जा सकता है, जहाँ p और q हैं:

(a) प्राकृतिक संख्याएँ और $q \neq 0$

(b) पूर्ण संख्याएँ और $q \neq 0$

(c) गैर-ऋणात्मक पूर्णांक और $q \neq 0$

(d) पूर्णांक और $q \neq 0$

उत्तर- (d)

21. संख्या ____ और __ उनके अपने व्युत्क्रम हैं।

(a) -1 और 0

(b) 1 और 0

(c) 1 और -1

(d) इनमें से कोई नहीं

उत्तर- (c)

22. परिमेय संख्या 5/-3 का भाजक क्या है?

(a) 5

(b) -3

(c) 3

(d) 8

उत्तर-(b)

23. एक अंश एक तर्कसंगत संख्या है, और एक तर्कसंगत संख्या है:

(ए) कभी भी एक अंश नहीं हो सकता है।

(बी) एक अंश हो सकता है या नहीं भी हो सकता है।

(c) भी एक अंश है।

(डी) को हमेशा एक अंश तक कम किया जा सकता है।

उत्तर-(b)

24. −2,4/−5,−11/20,3/4 का सही अवरोही क्रम कौन सा है?

(a) 3/4 > -2 > -11/20 > 4/−5

(b) 3/4 > -11/20 > -4/5 > -2

(c) 3/4 > 4/-5 > -2 > -11/20

(d) 3/4 > 4/-5 >-11/20 >-2

उत्तर-(b)

25. वस्तुओं की गणना के लिए उपयोग की जाने वाली संख्याओं को क्या कहा जाता है?

(a) प्राकृतिक संख्याएँ

(b) संपूर्ण संख्या

(c) पूर्णांक

(d) इनमें से कोई नहीं

उत्तर- (a)

26. परिमेय संख्या 3/-7 का भाजक क्या है?

(a) 7

(b) -7

(c) 3

(d) -3

उत्तर-(b)

27. मानक रूप -36/24 तक कम करें

(a) 6/4

(b) -3/2

(c) 4/6

(d) इनमें से कोई नहीं

उत्तर-(b)

28. दो परिमेय संख्याओं का गुणनफल हमेशा एक _____ होता है।

(a) पूर्णांक

(b) तर्कसंगत संख्या

(c) प्राकृतिक संख्या

(d) पूरी संख्या

उत्तर-(b)

29. परिमेय संख्या -2/-5 का प्रगणक क्या है?

(a) 2

(b) -2

(c) 5

(d) -5

उत्तर-(b)

30. अंश किस रूप में होते हैं?

(a) गणनाकार/0

(b) प्रगणक/भाजक

(c) भाजक/प्रगणक

(d) इनमें से कोई नहीं

उत्तर-(b)

31. _____ में एसोसिएटिव प्रॉपर्टी का पालन नहीं किया जाता है

(a) पूर्णांक

(b) पूर्ण संख्या

(c) तर्कसंगत संख्याएं

(d) प्राकृतिक संख्याएँ

उत्तर- (d)

32. परिमेय संख्या -5/–3 का प्रगणक क्या है?

(a) -5

(b) 5

(c) -3

(d) 3

उत्तर- (a)

33. तर्कसंगत संख्या में से कौन सी धनात्मक है?

(a) 3/7

(b) -5/7

(c) -4/7

(d) -3/7

उत्तर- (a)

34. परिमेय संख्या -2/-9 का भाजक क्या है?

(a) -2

(b) 2

(c) 9

(d) -9

उत्तर- (d)

35. 2 − 11/39 + 5/26 का परिणाम क्या है?

(a) 149/39

(b) 149/78

(c) 149/76

(d) 149/98

उत्तर-(b)

36. -2 और -1 के बीच तर्कसंगत संख्या।

(a) 3/2

(b) 3

(c) -3/2

(d) इनमें से कोई नहीं

उत्तर- (c)

37. परिमेय संख्या -6/-5 का भाजक क्या है?

(a) 6

(b) -6

(c) 5

(d) -5

उत्तर- (d)

38. सही प्रतीक –5/7 ▢ 2/3 लिखें

(a) < (b) >

(c) =

(d) इनमें से कोई नहीं

उत्तर- (a)

39. तर्कसंगत संख्याओं को जोड़ने के लिए _____ पहचान है।

(a) 0

(b) 1

(c) -1

(d) इनमें से कोई नहीं

उत्तर- (a)

40. परिमेय संख्या 0 का प्रगणक क्या है?

(a) 0

(b) 1

(c) 2

(d) 3

उत्तर- (a)

41. 4/7 का योजक व्युत्क्रम क्या है?

(a) −4/7

(b) −4/-7

(c) 7/4

(d) इनमें से कोई नहीं

उत्तर- (a)

42. पूर्णांक में परिमेय संख्या 9/1 क्या है?

(a) 0

(b) 9

(c) -9

(d) 1

उत्तर-(b)

43. परिमेय संख्या 0 का भाजक क्या है?

(a) 0

(b) 1

(c) -1

(d) कोई गैर-शून्य पूर्णांक

उत्तर- (d)

44. –63/99 को मानक रूप में कम करें।

(a) 11/7

(b) -7/11

(c) 7/11

(d) इनमें से कोई नहीं

उत्तर-(b)

45. एक परिमेय संख्या 8 का प्रगणक क्या है?

(a) 2

(b) 4

(c) 6

(d) 8

उत्तर- (d)

46. यदि $-4/7 = -32/x$ है, तो x का मान क्या है?

(a) 56

(b) -56

(c) 46

(d) -46

उत्तर- (a)

47. तर्कसंगत संख्या 8 का भाजक क्या है?

(a) 8

(b) 2

(c) 4

(d) 1

उत्तर- (d)

48. (4/15) प्राप्त करने के लिए (7/12) में कौन सी संख्या जोड़ी जानी चाहिए?

(a) -19/60

(b) -19

(c) 1/2

(d) इनमें से कोई नहीं

उत्तर- (a)

49. परिमेय संख्या – 9 का प्रगणक क्या है?

(a) -9

(b) 9

(c) 1

(d) -1

उत्तर- (a)

50. यदि 4/7,1/3,2/5 और 5/9 को आरोही क्रम में व्यवस्थित किया जाता है, तो दो मध्य तर्कसंगत संख्याओं का औसत क्या है?

(a) 80/90

(b) 86/45

(c) 43/45

(d) 43/90

उत्तर- (d)

51. यदि 3/4 = ?/12 है, तो ? =

(a) 3

(b) 6

(c) 9

(d) 12

उत्तर- (c)

Please Share This Share this content

- Opens in a new window



- Opens in a new window

- Opens in a new window

- Opens in a new window

- Opens in a new window

- Opens in a new window

- Opens in a new window

- Opens in a new window

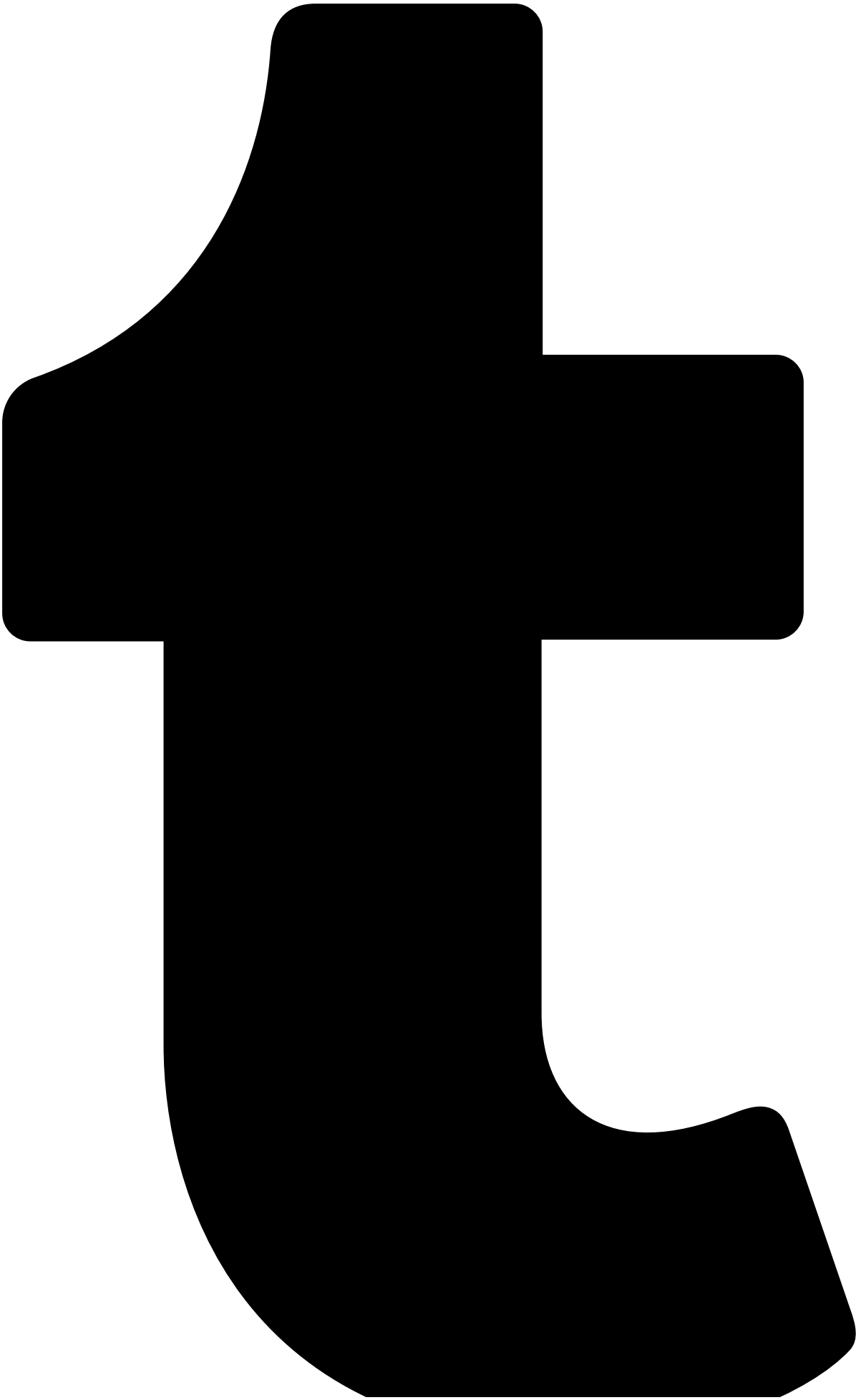

- Opens in a new window



- Opens in a new window

You Might Also Like

BSEB Class 12 Home Science MCQs Chapter 10 पारिवारिक आय तथा व्यय

August 29, 2022

CBSE Class 6 Hindi Subjective

May 2, 2023

NCERT Solutions for Class 7 Social Science Our Enviroment Chapter – 09 Life in the Temperature Grasslands

May 7, 2023