Skip to content

- Post category:Uncategorized

Here we are providing **Class 7 Math MCQs** Chapter – 14 सममिति because for Class 7 students as we all know that every board exam question has MCQs so that students should practice these questions so that students can get good marks in board. Class 7 Math MCQs Chapter – 14 सममिति is an extremely important and its also a year in which students learn the fundamentals of concepts that help them lay a solid foundation for their higher education. Here we are providing in Class 7 Math MCQs Chapter – 14 सममिति 100+questions so that students practice more and more. If you want class 7 Math Notes Then **Click Here**

Download PDF

1. एक समबाहु त्रिभुज में समरूपता की कितनी रेखाएँ होती हैं?

(a) 1

(b) 2

(c) 3

(d) 4

**उत्तर- (c)**

2. निम्नलिखित में से किस अक्षर में ऊर्ध्वाधर दर्पण के बारे में समरूपता की प्रतिबिंब रेखा है?

(a) सी

(b) वी

(c) बी

(d) क्यू

**उत्तर-(b)**

3. एक वर्ग में समरूपता की कितनी रेखाएँ होती हैं?

(a) 1

(b) 2

(c) 3

(d) 4

**उत्तर- (d)**

4. नियमित पंचभुज में समरूपता की कितनी रेखाएँ होती हैं?

(a) 2

(b) 3

(c) 5

(d) 4

**उत्तर- (c)**

5. एक आयत में समरूपता की कितनी रेखाएँ होती हैं?

(a) 1

(b) 2

(c) 3

(d) 4

**उत्तर-(b)**

6. समरूपता की रेखाओं की संख्या एक त्रिभुज में नहीं है:

(a) 3

(b) 1

(c) 0

(d) 2

**उत्तर- (d)**

7. एक नियमित पंचभुज में समरूपता की कितनी रेखाएँ होती हैं?

(a) 1

(b) 2

(c) 3

(d) 5

**उत्तर- (d)**

8. समरूपता की रेखाओं की संख्या बताइए।

(a) अनंत

(b) 0

(c) 4

(d) इनमें से कोई नहीं

**उत्तर- (a)**

9. A XYZ में, XY = XZ और XM⊥YZ और ZP⊥XY निम्नलिखित में से कौन सा त्रिभुज सममित है?

(a) एक्सएम

(b) वाई एन

(c) जिला परिषद

(d) XZ

**उत्तर- (a)**

10. एक नियमित षट्भुज में समरूपता की कितनी रेखाएँ होती हैं?

(a) 2

(b) 4

(c) 6

(d) 3

**उत्तर- (c)**

11. आयत में समरूपता की कितनी रेखाएँ होती हैं?

(a) 2

(b) 1

(c) 0

(d) इनमें से कोई नहीं

**उत्तर- (a)**

12. निम्नलिखित चित्र में समरूपता की कितनी रेखाएँ हैं?

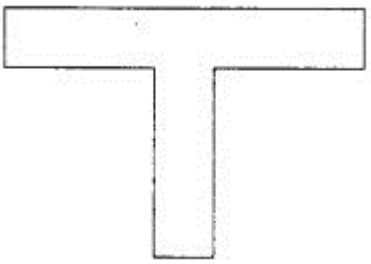

(a) 1

(b) 2

(c) 3

(d) 4

**उत्तर- (a)**

13. एक समबाहु त्रिभुज में समरूपता की कितनी रेखाएँ होती हैं?

(a) 2

(b) 3

(c) 0

(d) 1

**उत्तर-(b)**

14. निम्नलिखित चित्र में समरूपता की कितनी रेखाएँ हैं?



(a) 1

(b) 2

(c) 3

(d) 4

**उत्तर- (a)**

15. अंग्रेजी वर्णमाला के अक्षर 'सी' में परावर्तनसमरूपता (यानी, दर्पण प्रतिबिंब से संबंधित समरूपता) है।

(a) एक क्षैतिज दर्पण

(b) एक ऊर्ध्वाधर दर्पण

(c) दोनों

(d) इनमें से कोई नहीं

**उत्तर- (a)**

16. निम्नलिखित चित्र में समरूपता की कितनी रेखाएँ हैं?

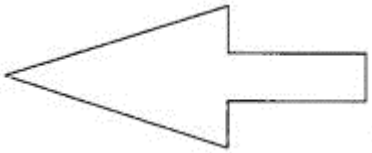

(a) 1

(b) 2

(c) 3

(d) 4

**उत्तर- (a)**

17. अंग्रेजी वर्णमाला के अक्षर 'एच' में परावर्तनसमरूपता (यानी, दर्पण प्रतिबिंब से संबंधित समरूपता) है।

(a) एक ऊर्ध्वाधर दर्पण

(b) क्षैतिज और वास्तविक दोनों

(c) एक क्षैतिज दर्पण

(d) न तो क्षैतिज और न ही वास्तविक

**उत्तर-(b)**

18. वृत्त की घूर्णी समरूपता का क्रम क्या है?

(a) 1

(b) 4

(c) 2

(d) अनंत

**उत्तर- (d)**

19. समांतर चतुर्भुज के लिए समरूपता की रेखाओं की संख्या बताइए।

(a) 0

(b) 1

(c) 2

(d) इनमें से कोई नहीं

**उत्तर- (a)**

20. निम्नलिखित में से किस त्रिभुज में समरूपता की कोई रेखा नहीं है?

(a) एक समबाहु त्रिभुज

(b) एक समद्विबाहु त्रिभुज

(c) एक विशाल त्रिभुज

(d) उपर्युक्त सभी

**उत्तर- (c)**

21. निम्नलिखित आकृति के घूर्णी समरूपता का क्रम क्या है?

(a) 1

(b) 2

(c) 3

(d) 4

**उत्तर-(b)**

22. निम्नलिखित में से किस वर्णमाला में रेखा समरूपता है?

(a) पी

(b) क्यू

(c) जेड

(d) ए

**उत्तर- (d)**

23. निम्नलिखित में से किसमें समरूपता की केवल एक पंक्ति है?

(a) एक आयत

(b) एक वर्ग

(c) एक अर्ध वृत्त

(d) एक समबाहु त्रिभुज

**उत्तर- (c)**

24. निम्नलिखित चित्र में समरूपता की कितनी रेखाएँ हैं?

(a) 4

(b) 3

(c) 2

(d) 1

**उत्तर- (d)**

25. निम्नलिखित में से किसमें समरूपता की क्षैतिज और ऊर्ध्वाधर रेखा दोनों हैं?

(a) H

(b) एस

(c) वी

(d) ए

**उत्तर- (a)**

26. अंग्रेजी वर्णमाला के निम्नलिखित अक्षरों में से किसमें क्षैतिज और ऊर्ध्वाधर दर्पण दोनों के बारे में परावर्तनसमरूपता है?

(a) ओ

(b) Y

(c) टी

(d) एल

**उत्तर- (a)**

27. समद्विबाहु त्रिभुज के घूर्णन का कोण क्या है?

(a) 120°

(b) 270°

(c) 180°

(d) 360°

**उत्तर- (c)**

28. निम्नलिखित में से किस वर्णमाला में समरूपता की कई रेखाएँ हैं?

(a) I

(b) ओ

(c) पी

(d) एफ

**उत्तर-(b)**

29. एक स्केलन त्रिभुज में समरूपता की कितनी रेखाएँ होती हैं?

(a) 1

(b) 0

(c) 2

(d) 4

**उत्तर-(b)**

30. इनमें से किस चतुर्भुज में रेखा और घूर्णी समरूपतादोनों का क्रम 3 से अधिक है?

(a) एक त्रिभुज

(b) एक वर्ग

(c) एक पतंग

(d) एक आयत

**उत्तर-(b)**

31. समांतर चतुर्भुज में समरूपता की कितनी रेखाएँ होती हैं?

(a) 0

(b) 1

(c) 2

(d) इनमें से कोई नहीं

**उत्तर- (d)**

32. अंग्रेजी वर्णमाला के अक्षर 'डी' में परावर्तनसमरूपता (यानी, दर्पण प्रतिबिंब से संबंधित समरूपता) है।

(ए) एक ऊर्ध्वाधर दर्पण

(बी) एक क्षैतिज दर्पण

(c) दोनों

(d) इनमें से कोई नहीं

**उत्तर- (a)**

33. x चिह्नित बिंदु के बारे में निम्नलिखित आकृति की घूर्णी समरूपता का क्रम क्या है?

(a) 1

(b) 2

(c) 3

(d) 4

**उत्तर- (c)**

34. एक वर्ग में समरूपता की कितनी रेखाएँ होती हैं?

(a) 2

(b) 3

(c) 4

(d) 1

**उत्तर- (c)**

35. अंग्रेजी वर्णमाला के अक्षर 'सी' में परावर्तनसमरूपता (यानी, दर्पण प्रतिबिंब से संबंधित समरूपता) है।

(a) एक क्षैतिज दर्पण

(b) एक ऊर्ध्वाधर दर्पण

(c) दोनों

(d) इनमें से कोई नहीं

**उत्तर- (a)**

36. इनमें से किस अक्षर में केवल घूर्णी समरूपता होती है?

(a) एस

(b) ई

(c) बी

(d) पी

**उत्तर- (a)**

37. चतुर्भुज के लिए समरूपता की रेखाओं की संख्या बताइए।

(a) 1

(b) 0

(c) 2

(d) इनमें से कोई नहीं

**उत्तर-(b)**

38. एक स्केलन त्रिभुज के लिए समरूपता की रेखाओं की संख्या बताइए।

(a) 1

(b) 2

(c) 0

(d) इनमें से कोई नहीं

**उत्तर- (c)**

39. अंग्रेजी वर्णमाला के अक्षर 'जी' में परावर्तनसमरूपता (यानी, दर्पण प्रतिबिंब से संबंधित समरूपता) है।

(a) न तो क्षैतिज और न ही वास्तविक

(b) एक क्षैतिज दर्पण

(c) एक ऊर्ध्वाधर दर्पण

(d) दोनों

**उत्तर- (a)**

40. समबाहु त्रिभुज के लिए समरूपता की रेखाओं की संख्या बताइए।

(a) 3

(b) 0

(c) 1

(d) इनमें से कोई नहीं

**उत्तर- (a)**

41. अंग्रेजी वर्णमाला Z के घूर्णी समरूपता का क्रम क्या है?

(a) 0

(b) 1

(c) 2

(d) 3

**उत्तर- (c)**

**Please Share This Share this content**

- Opens in a new window



- Opens in a new window

- Opens in a new window

- Opens in a new window

- Opens in a new window

- Opens in a new window

- Opens in a new window

- Opens in a new window

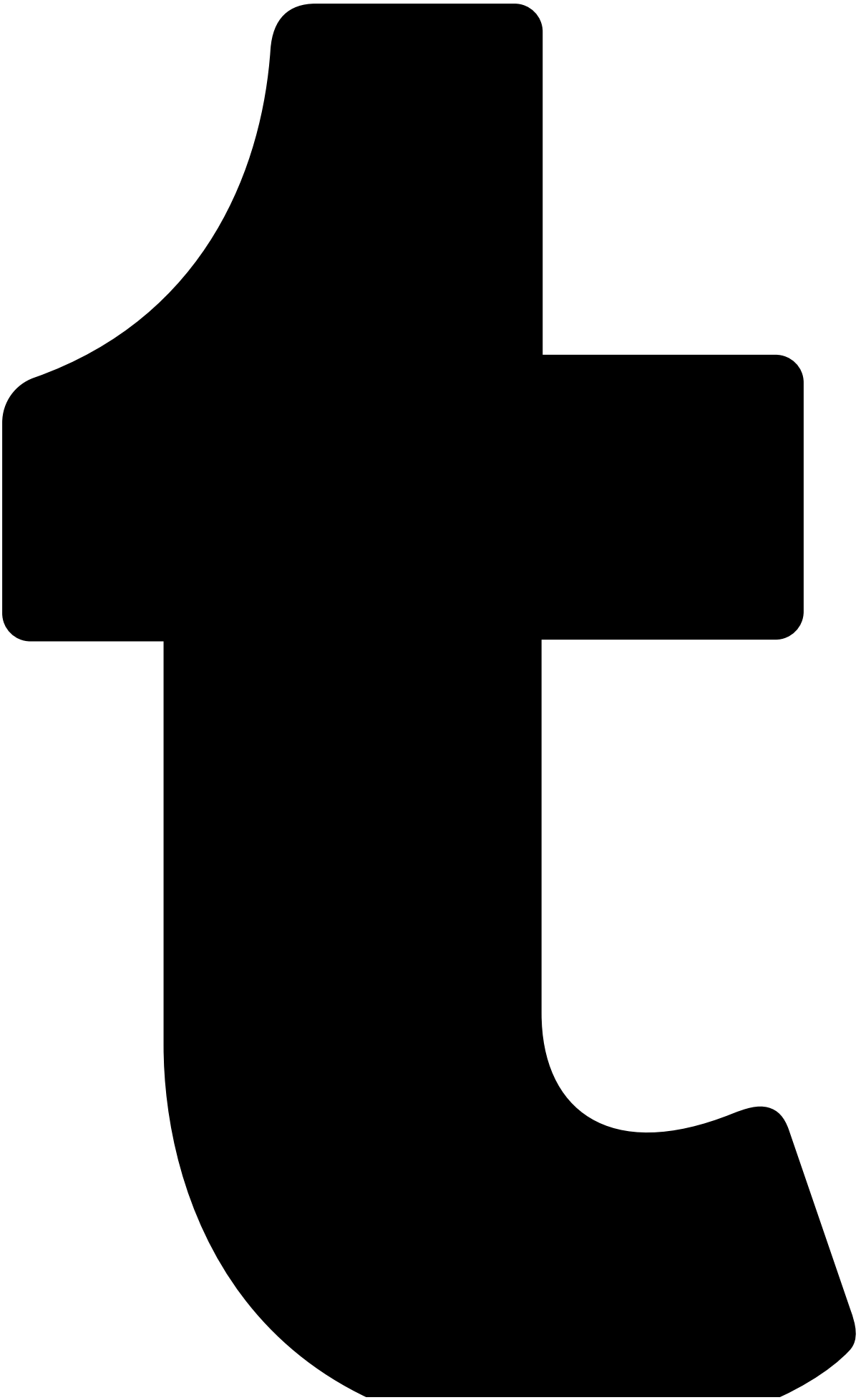

- Opens in a new window



- Opens in a new window

### You Might Also Like

## Class 7 SST History Notes Ch – 08 ईश्वर से अनुराग

August 12, 2023

## NCERT Class 11 Biology Chapter 12 Mineral Nutrition

January 31, 2023

# Class 12 Economics MCQs Chapter – 8 National Income Accounting

June 28, 2023