Skip to content

- Post category:Uncategorized

Here we are providing **Class 7 Math MCQs** Chapter – 15 ठोस आकारों का चित्रण because for Class 7 students as we all know that every board exam question has MCQs so that students should practice these questions so that students can get good marks in board. Class 7 Math MCQs Chapter – 15 ठोस आकारों का चित्रण is an extremely important and its also a year in which students learn the fundamentals of concepts that help them lay a solid foundation for their higher education. Here we are providing in Class 7 Math MCQs Chapter – 15 ठोस आकारों का चित्रण 100+questions so that students practice more and more. If you want class 7 Math Notes Then **Click Here**

Download PDF

1. बगल के जाल को मोड़ने से, हमें मिलता है

(a) एक घन

(b) एक सिलेंडर

(c) एक पिरामिड

(d) एक शंकु

उत्तर- (c)

2. जब आप एक गोल सेब को क्षैतिज कट देते हैं तो आपको क्या क्रॉस-सेक्शन मिलता है?

(a) वृत्त

(b) वर्ग

(c) आयत

(d) त्रिभुज

उत्तर- (a)

3. एक ईंट का ऊर्ध्वाधर कट क्रॉस सेक्शन को दिखाएगा

(a) वृत्त

(b) पेंटागन

(c) आयत

(d) षट्भुज

उत्तर- (c)

4. जब आप आइसक्रीम शंकु को ऊर्ध्वाधर कट देते हैं तो आपको क्या क्रॉस-सेक्शन मिलता है?

(a) त्रिभुज

(b) वृत्त

(c) आयत

(d) वर्ग

उत्तर- (a)

5. निम्नलिखित में से किस ठोस में शीर्षों की संख्या अधिकतम है

(a) घनाभ

(b) पिरामिड

(c) सिलेंडर

(d) शंकु

उत्तर- (a)

6. जब आप आइसक्रीम शंकु को क्षैतिज कट देते हैं तो आपको क्या क्रॉस-सेक्शन मिलता है?

(a) त्रिभुज

(b) वृत्त

(c) आयत

(d) वर्ग

उत्तर- (b)

7. निम्नलिखित में से कौन सा त्रिआयामी है?

(a) एक विमान

(b) एक वक्र

(c) घनाभ

(d) एक प्रिज्म

उत्तर- (c)

8. एक त्रिकोणीय प्रिज्म के चेहरों की संख्या _____ है।

(a) 5

(b) 6

(c) 4

(d) इनमें से कोई नहीं

उत्तर- (c)

9. एक सिलेंडर के घुमावदार चेहरे को किस रूप में खोला जा सकता है?

(a) आयत

(b) इनमें से कोई नहीं

(c) त्रिभुज

(d) वृत्त

उत्तर- (a)

10. एक घन के चेहरों की संख्या _____ है।

(a) 4

(b) 6

(c) 8

(d) इनमें से कोई नहीं

उत्तर- (b)

11. एक वर्गाकार पिरामिड में किनारों की संख्या क्या है?

(a) 6

(b) 8

(c) 10

(d) 12

उत्तर- (b)

12. घन और घनाभ के दो आसन्न किनारों के बीच का कोण क्या है?

(a) 90^0

(b) 45^0

(c) 120^0

(d) 60^0

उत्तर- (a)

13. एक घनाभ में ____ आयताकार सतह होते हैं।

(a) 8

(b) 2

(c) 6

(d) 4

उत्तर- (c)

14. संलग्न चित्र क्या है?

(a) शंकु

(b) वर्ग पिरामिड

(c) प्रिज्म

(d) त्रिकोणीय पिरामिड

उत्तर- (d)

15. एक ईंट का आकार

(a) घनाभ

(b) वृत्त

(c) आयत

(d) घन

उत्तर- (a)

16. निम्नलिखित में से किस ठोस का केवल एक मुख होता है?

(a) शंकु

(b) सिलेंडर

(c) गोला

(d) पिरामिड

उत्तर- (c)

17. एक बेलन के चेहरों की संख्या _____ है।

(a) 2

(b) 1

(c) 3

(d) इनमें से कोई नहीं

उत्तर- (a)

18. ठोस आकार के शीर्षों की संख्या क्या है?

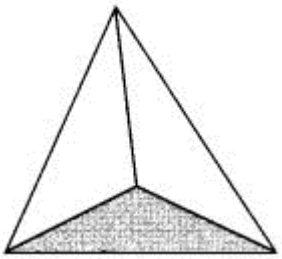

(a) 1

(b) 2

(c) 3

(d) 4

उत्तर- (d)

19. किनारे की लंबाई 2 सेमी के दो क्यूब्स को साथ-साथ रखा जाता है। परिणामी घनाभ की लंबाई क्या है?

(a) 2 सेमी

(b) 4 सेमी

(c) 1 सेमी

(d) इनमें से कोई नहीं

उत्तर- (b)

20. एक ड्रम का आकार

(a) घनाभ

(b) घन

(c) सिलेंडर

(d) शंकु

उत्तर- (a)

21. एक वर्ग पिरामिड के चेहरों की संख्या _____ है।

(a) 4

(b) 7

(c) 5

(d) इनमें से कोई नहीं

उत्तर- (c)

22. दो आयामी आकृति कौन-सा/से हैं: (i) वर्ग (ii) वृत्त (iii) घन (iv) घनाभ

(a) केवल 1,2,3

(b) केवल 2,3,4

(c) ये सभी

(d) केवल 1,2

उत्तर- (a)

23. निम्नलिखित में से सही कथन को पहचानिए।

(a) एक त्रिभुज की 3 भुजाएँ और 4 शीर्ष हैं।

(b) एक बेलन के 3 मुख होते हैं।

(c) आयत की सभी भुजाएँ बराबर हैं।

(d) एक घनाभ के 4 चपटे चेहरे और 12 सीधे किनारे हैं।

उत्तर- (b)

24. निम्नलिखित में से कौन सा घनाभ नहीं है

(a) मर जाना

(b) ज्यामिति बॉक्स

(c) ब्रीफकेस

(d) मकई के गुच्छे का एक बॉक्स

उत्तर- (a)

25. एक आयताकार प्रिज्म के चेहरों की संख्या _____ है।

(a) 4

(b) 6

(c) 3

(d) इनमें से कोई नहीं

उत्तर- (b)

26. ठोस आकृति का नाम क्या है?

(a) शंकु

(b) सिलेंडर

(c) गोला

(d) घन

उत्तर- (b)

27. एक वर्ग पिरामिड के किनारों की संख्या ____ है।

(a) 4

(b) 6

(c) 8

(d) इनमें से कोई नहीं

उत्तर- (c)

28. ठोस आकृति का नाम क्या है?

(a) घनाभ

(b) घन

(c) पिरामिड

(d) शंकु

उत्तर- (a)

29. एक आयताकार पिरामिड के किनारों की संख्या ____ है।

(a) 21

(b) 8

(c) 7

(d) इनमें से कोई नहीं

उत्तर- (b)

30. ठोस आकृति का नाम क्या है?

(a) सिलेंडर

(b) शंकु

(c) गोला

(d) घन

उत्तर- (c)

31. एक त्रिकोणीय पिरामिड के किनारों की संख्या _____ है।

(a) 8

(b) 5

(c) 6

(d) इनमें से कोई नहीं

उत्तर- (c)

32. ठोस आकृति का नाम क्या है?

(a) घन

(b) सिलेंडर

(c) शंकु

(d) गोला

उत्तर- (a)

33. एक त्रिकोणीय पिरामिड या टेट्राहेड्रॉन के चेहरों की संख्या _____ है।

(a) 4

(b) 6

(c) 5

(d) 1024

उत्तर- (a)

34. ठोस आकृति का नाम क्या है?

(a) सिलेंडर

(b) शंकु

(c) घनाभ

(d) गोला

उत्तर- (b)

36. एक त्रिकोणीय प्रिज्म के त्रिकोणीय चेहरों की संख्या _____ है।

(a) 2

(b) 1

(c) 4

(d) इनमें से कोई नहीं

उत्तर- (a)

37. ठोस आकृति का नाम क्या है?

(a) सिलेंडर

(b) शंकु

(c) गोला

(d) पिरामिड

उत्तर- (d)

38. घनाभ किसका एक उदाहरण है?

(a) दोनों

(b) 2-डी आकार।

(c) 3-डी आकार

(d) इनमें से कोई नहीं

उत्तर- (c)

39. एक घन के किनारों की संख्या क्या है?

(a) 8

(b) 12

(c) 6

(d) 3

उत्तर- (b)

40. एक घन के शीर्षों की संख्या _____ है।

(a) 12

(b) 8

(c) 6

(d) इनमें से कोई नहीं

उत्तर- (b)

41. जब आप किसी व्यक्ति को क्षैतिज कट देते हैं तो आपको कौन सा क्रॉस-सेक्शन मिलता है?

(a) वर्ग

(b) आयत

(c) त्रिभुज

(d) वृत्त

उत्तर- (a)

42. निम्नलिखित में से गोले के शीर्षों की संख्या क्या है?

(a) 0

(b) 1

(c) 2

(d) 4

उत्तर- (a)

43. जब आप ईंट को ऊर्ध्वाधर कट देते हैं तो आपको कौन सा क्रॉस-सेक्शन मिलता है?

(a) वर्ग

(b) आयत

(c) त्रिभुज

(d) वृत्त

उत्तर- (a)

44. एक डाई क्षैतिज रूप से काटा जाता है। क्रॉस-सेक्शन क्या प्राप्त किया जाता है?

(a) एक त्रिभुज

(b) एक आयत

(c) एक वर्ग

(d) एक घन

उत्तर- (c)

45. जब आप ईंट को क्षैतिज कट देते हैं तो आपको कौन सा क्रॉस-सेक्शन मिलता है?

(a) त्रिभुज

(b) वृत्त

(c) वर्ग

(d) आयत

उत्तर- (d)

46. राकेश के पास इसी तरह के 10 एक रुपये के सिक्के हैं। वह उन्हें दूसरे पर बिल्कुल एक रखता है। अंत में उसे क्या आकार मिलेगा?

(a) वृत्त

(b) सिलेंडर

(c) घन

(d) शंकु

उत्तर- (b)

47. जब आप एक गोल सेब को ऊर्ध्वाधर कट देते हैं तो आपको कौन सा क्रॉस-सेक्शन मिलता है?

(a) वृत्त

(b) त्रिभुज

(c) वर्ग

(d) आयत

उत्तर- (a)

Please Share This Share this content

- Opens in a new window



- Opens in a new window

- Opens in a new window

- Opens in a new window

- Opens in a new window

- Opens in a new window

- Opens in a new window

- Opens in a new window

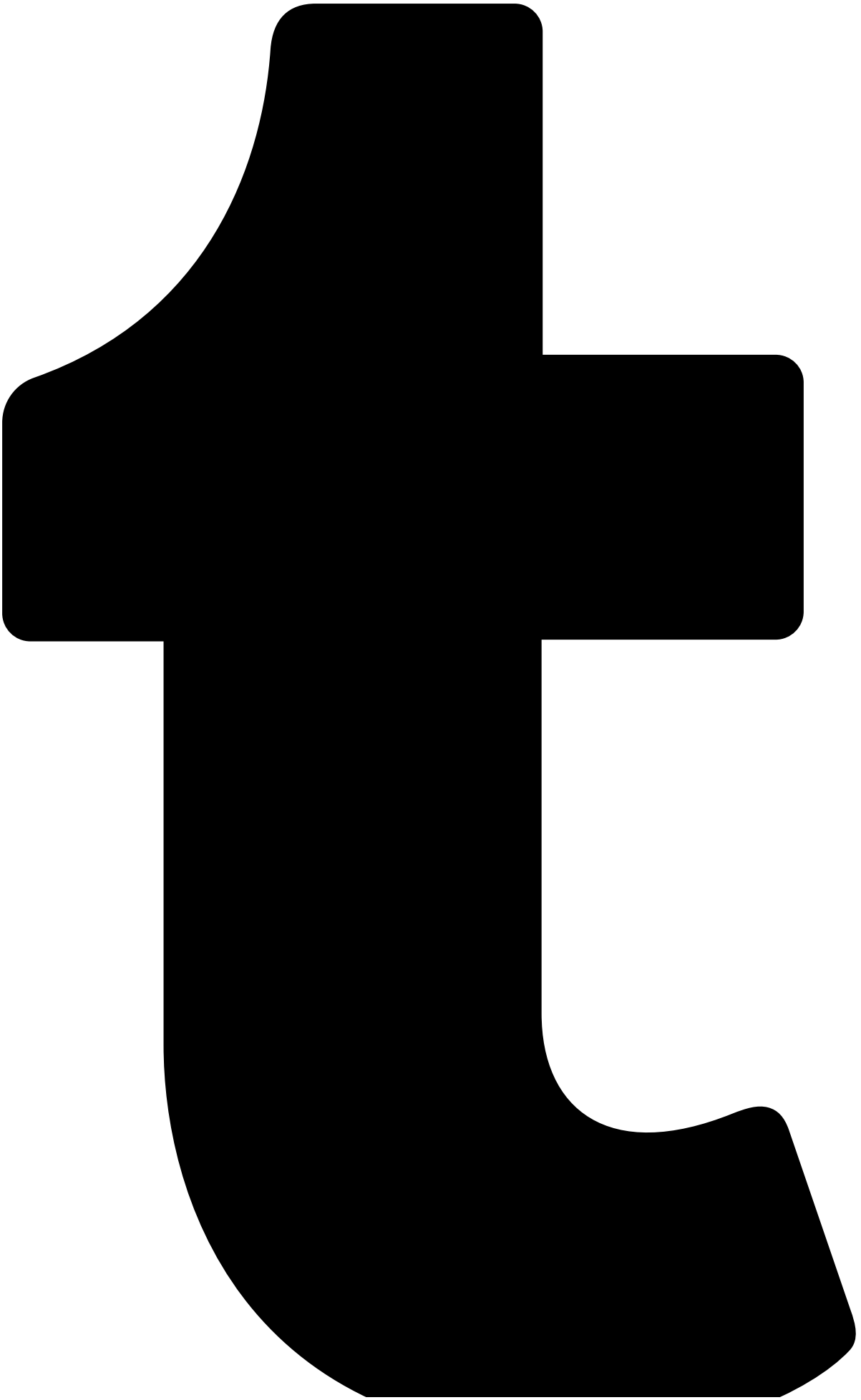

- Opens in a new window



- Opens in a new window

You Might Also Like

Bihar Board Class 9 History Subjective Ch – 02 अमेरिकी स्वतंत्रता संग्राम

August 30, 2024

Class 11 Biology Notes Chapter 07 Structural Organisation in Animals

October 7, 2023

CBSE Class 6 English Subjective

May 2, 2023