Skip to content

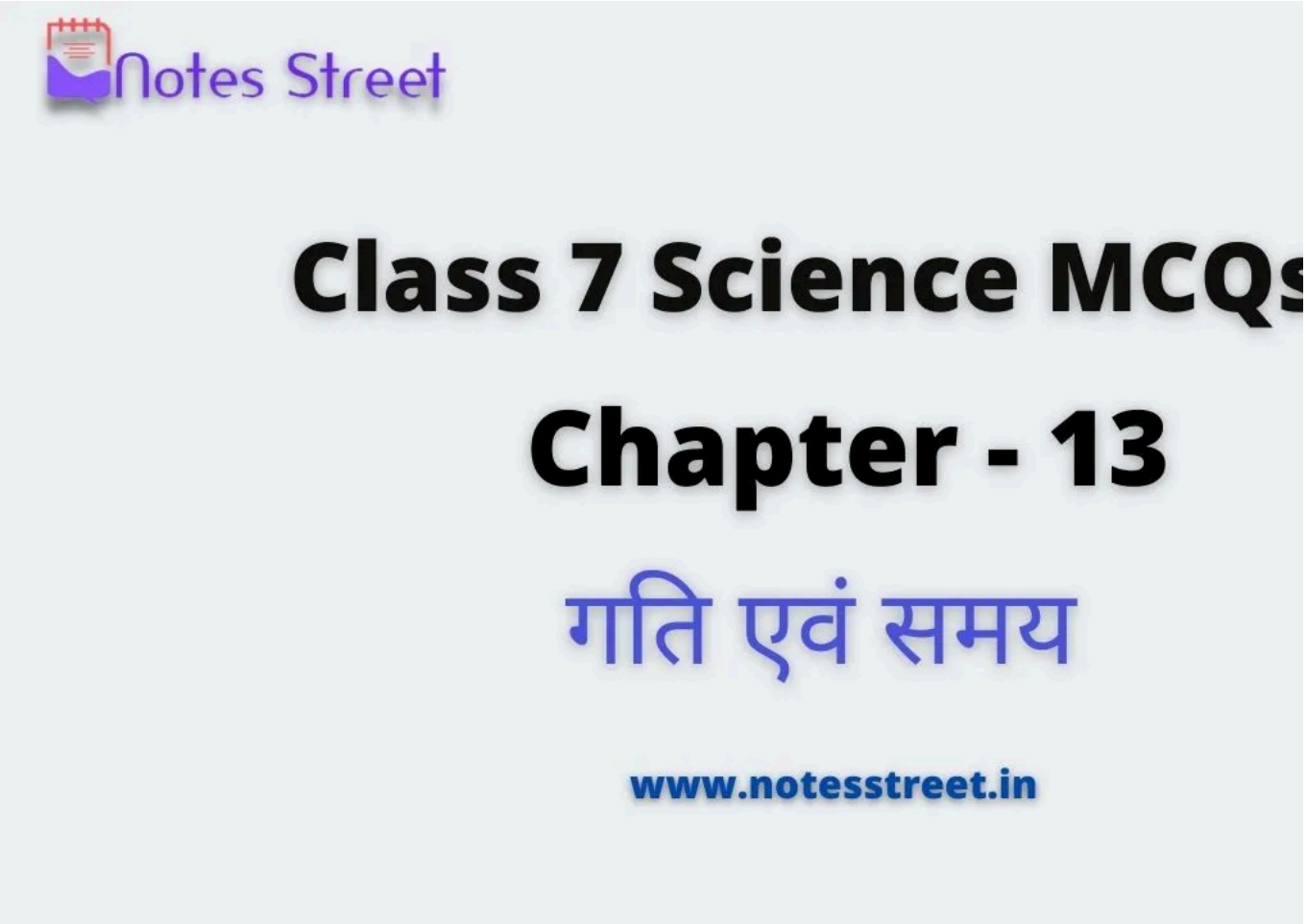

Class 7 Science MCQs Chapter – 13 गति एवं समय

- Post category:Uncategorized

Class 7 Science MCQs Chapter – 13 गति एवं समय For Board Exam with PDF Answer Key, students can follow these question below. Download PDF of class 7 science mcqs in hindi with answers and prepare for the exam and help students understand the concept very well. Below, we have provided the **Class 7 Science MCQ** with answers to help students complete the entire program and practice the multiple choice questions presented here with solutions. Students should review all the topics provided in your CBSE Class 7 science books and then try the MCQ questions.

By practice Class 7 Science MCQs Chapter – 13 questions, students will be able to develop different types of strategies for solving the 7th grade science MCQ. During preparation, they should carefully read the questions and then answer them. This is why students can use multiple choice questions in preparation for the class 7 exam to gain control over all the important concepts. Class 7 Science MCQs Chapter – 13 गति एवं समय the answers to the questions and your score can be viewed when submitting the test after selecting the correct answers to the questions. You can also download class wise **notes here**

Class 7 Science MCQs Chapter – 13 गति एवं समय

1. गतियों के उदाहरण कौन-कौन से हैं ?

(a) चलती साइकिल के पैंडल की गति

(b) झूले की गति

(c) लोलक की गति

(d) उपरोक्त सभी

Ans:- (d)

2. किसी वाहन की चाल _____ द्वारा मापी जा सकती है?

(a) ओडोमीटर

(b) स्पीडोमीटर

(c) दोनों

(d) दोनों ही नहीं

Ans:- (b)

3. एक कार 2 घंटे में 80 कि. मी. दूरी तय करती है, इसकी चाल होगी

(a) 80 कि. मी. /घंटा

(b) 40 कि. मी./मिनट

(c) 40 कि. मी./ सैकड़

(d) 40 कि. मी./घंटा

Ans:- (d)

4. एक माइक्रो सैकड़ सैकड़ का कौन-सा भाग होता है ?

(a) 50 लाख

(b) 10 लाख

(c) 5 लाख

(d) एक लाख

Ans:- (b)

5. समय का मूल मात्रक …….. है।

(a) सैकंड़

(b) मिनट

(c) घंटा

(d) रात- दिन

Ans:- (a)

6. किन वाहनों के डैशबोर्ड पर मीटर देखे जा सकते हैं ?

(a) कारों

(b) बसों

(c) a तथा b

(d) साइकिल

Ans:- (c)

7. एक व्यक्ति की 5 कि.मी. घंटे की चाल है । वह 40 कि.मी. दूरी कितने समय में तय करेगा ?

(a) 5 घंटे में

(b) 4 घंटे में

(c) 8 घंटे में

(d) 16 घंटे में

Ans:- (c)

8. कौन-सा संबंध उचित है ?

(a) चाल = दूरी समय

(b) चाल = समय/दरी

(c) चाल = दूरी/समय

(d) चाल = 1/दूरी समय

Ans:- (c)

9…… सरल रेखीय गति नहीं है।

(a) झूले की गति

(b) मार्च पास्ट करता सैनिक

(c) सीधी सड़क पर चलता युवक

(d) ब्लैक बोर्ड पर सरल रेखा खींचना

Ans:- (a)

10. कौन-सा गति का प्रकार नहीं है ?

(a) रेखीय गति

(b) पूर्णन गति

(c) विराम गति

(d) दोलन गति

Ans:- (c)

11. सरल लोलक एक दोलन पूरा करने में जितना समय लगाता है उसे सरल लोलक का ……..कहते हैं।

(a) आवर्त

(b) दोलन

(c) आवर्तकाल

(d) समय अवधि

Ans:- (c)

12. एक कार की चाल 18m/s है | यह चाल कि.मी./घंटे में होगी –

(a) 6.48 कि. मी. /घंटा

(b) 64.8 कि. मी. /घंटा

(c) 648 कि. मी. /घंटा

(d) 6.84 कि. मी. /घंटा

Ans:- (b)

13. उपग्रहों को पृथ्वी की कक्षा में प्रमोचित करने वाले रोकेट कितने हैं ?

(a) 4

(b) 8

(c) 10

(d) 12

Ans:- (b)

14. एक वर्ष में कितने घंटे होते हैं ?

(a) 8760

(b) 9720

(c) 6720

(d) 7620

Ans:- (d)

15. बाज की तीव्रतम चाल हो सकती है……..कि.मी./घंटा

(a) 112

(b) 56

(c) 32

(d) 320

Ans:- (d)

16. चीता ……कि.मी./घंटे तीव्रतम चाल प्राप्त कर सकता है।

(a) 90

(b) 100

(c) 112

(d) 132

Ans:- (c)

17. एक नैनो सैकड़ सैकड़ का ……वा भाग होता है –

(a) 1000

(b) 10,000

(c) लाख

(d) अरब

Ans:- (d)

18. किसी वाहन की चाल …… द्वारा मापी जा सकती है|

(a) ओडोमीटर

(b) स्पीडोमीटर

(c) दोनों

(d) दोनों ही नहीं

Ans:- (b)

19. प्राचीन काल समय की मापन की युक्तियाँ कौन सी हैं ?

(a) रेतघड़ी

(b) धूपघड़ी

(c) जलघड़ी

(d) उपरोक्त सभी

Ans:- (d)

20. एक घंटे में कितने सेकंड होते है ?

(a) 600seconds

(b) 1200seconds

(c) 1800seconds

(d) 3600 seconds

Ans:- (d)

21. मानव ……. कि.मी./घंटे की तीव्रतम चाल प्राप्त कर सकता है

(a) 56

(b) 40

(c) 32

(d) 28

Ans:- (b)

22. ओडोमीटर क्या है ?

(a) चालमापी

(b) पथमापी

(c) दिशामापी

(d) तीनों ही

Ans:- (b)

23. रेलगाड़ी की चाल व्यक्त की जाती है –

(a) m/h

(b) km/h

(c) cm/h

(d) mm/h

Ans:- (b)

24. समय का S.I . मात्रक क्या है?

(a) Second

(b) Minute

(c) Hour

(d) Day

Ans:- (a)

25. निम्न में से कौन सा सही संबंध है ?

(a) चाल = दुरी x समय

(b) चाल = दूरी/समय

(c) चाल = समय/दूरी

(d) कोई नहीं

Ans:- (b)

26. वस्तु की गति किस प्रकार की हो सकती है ?

(a) किसी सरल रेखा के अनुदिश वर्तुल (वृताकार)

(b) आवर्ती

(c) (a) तथा (b)

(d) इनमें से कोई नहीं

Ans:- (c)

27. कौन-सा गति का प्रकार नहीं है ?

(a) रेखीय गति

(b) घूर्णन गति

(c) विराम गति

(d) दोलन गति

Ans:- (c)

28. ..... दोलन गति नहीं है।

(a) झूले की गति

(b) दौड़ते धावक के हाथों की गति

(c) घड़ी की सुई की गति

(d) पहिए की गति

Ans:- (a)

29. घड़ियों के कौन-कौन से प्रकार हैं ?

(a) दीवार घड़ी

(b) मेज घड़ी

(c) अंकक

(d) उपरोक्त सभी

Ans:- (d)

30. अनियमित गति का उदाहरण कौन-सा है ?

(a) मक्खी का उड़ना

(b) पक्षी का उड़ना

(c) मछली का जल में तैरना

(d) उपरोक्त सभी

Ans:- (d)

31. दूरी के मात्रक है-

(a) मीटर

(b) प्रकाश वर्ष

(c) किलोमीटर

(d) उपरोक्त सभी

Ans:- (d)

32. निम्न में से कौन सा सही संबंध है ?

(a) चाल = दूरी × समय

(b) चाल = दूरी / समय

(c) चाल = समय / दूरी

(d) इनमें से कोई नहीं

Ans:- (b)

33. आवर्ती घटनाओं का उपयोग किस भौतिक राशि को मापने में किया जाता है ?

(a) चाल

(b) दूरी

(c) समय

(d) द्रव्यमान

Ans:- (c)

34. तय की गई दूरी को मापने वाली युक्ति है?

(a) चालमापी

(b) ओडोमीटर

(c) लोलक

(d) कोई नहीं

Ans:- (b)

35. घड़ियों की कर्मविधि कैसी होती है ?

(a) सरल

(b) जटिल

(c) a तथा b

(d) इनमें से कोई नहीं

Ans:- (b)

36. समाचार पत्रपत्रिकाएँ आदि सूचनाओं को रोचक बनाने के लिए किस रूप में प्रस्तुत किया जाता है ?

(a) ग्राफ

(b) गति

(c) चाल

(d) रंग-बिरंगे

Ans:- (a)

37. किसी वस्तु दवारा एकांक समय में तय की गई दूरी को क्या कहते हैं ?

(a) चाल

(b) गति

(c) घर्षण

(d) बल

Ans:- (a)

38. जो वाहन दवारा तय की गई दूरी मापता है उसे क्या कहते हैं ?

(a) ओडोमीटर

(b) बैरोमीटर

(c) थर्मामीटर

(d) स्पीडोमीटर

Ans:- (a)

39. एक दिन में कितने सेकंड होते हैं ?

(a) 87400

(b) 57000

(c) 86400

(d) 56400

Ans:- (c)

40. किस राशि का मानक है

(a) दूरी

(b) चाल

(c) त्वरण

(d) समय

Ans:- (b)

41. आज कल घड़ियों में एक या दो सेलों वाले विदयत परिपथ होते है। उन घड़ियों को क्या कहते हैं ?

(a) क्वार्ट्ज घड़ी

(b) रेत घड़ी

(c) जल घड़ी

(d) उपरोक्त सभी

Ans:- (a)

42. चाल का मूल मात्रक क्या होता है ?

(a) km/min

(b) km/h

(c) m/h

(d) cm/s

Ans:- (b)

Please Share This Share this content

- Opens in a new window

- Opens in a new window

- Opens in a new window

- Opens in a new window

- Opens in a new window

- Opens in a new window

- Opens in a new window

- Opens in a new window

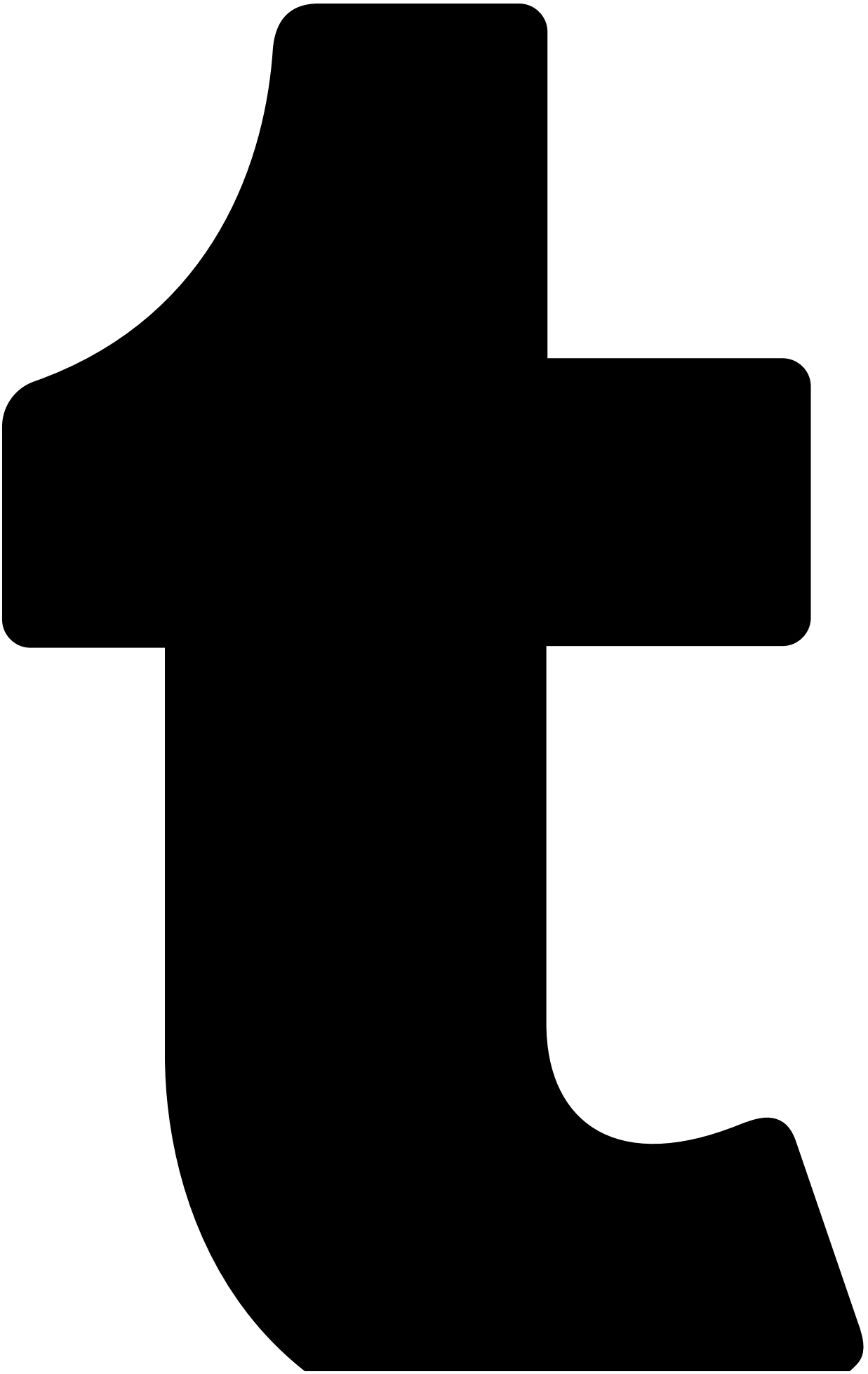

- Opens in a new window



- Opens in a new window

You Might Also Like

Class 12 Math MCQs Ch – 13 प्रायिकता

July 31, 2023

Class 11 Accountancy Important MCQs Chapter – 7 Depreciation, Provisions and Reserves

June 22, 2023

Class 6 Science Notes Chapter – 6 हमारे चारो ओर के परिवर्तन

March 18, 2024