Skip to content

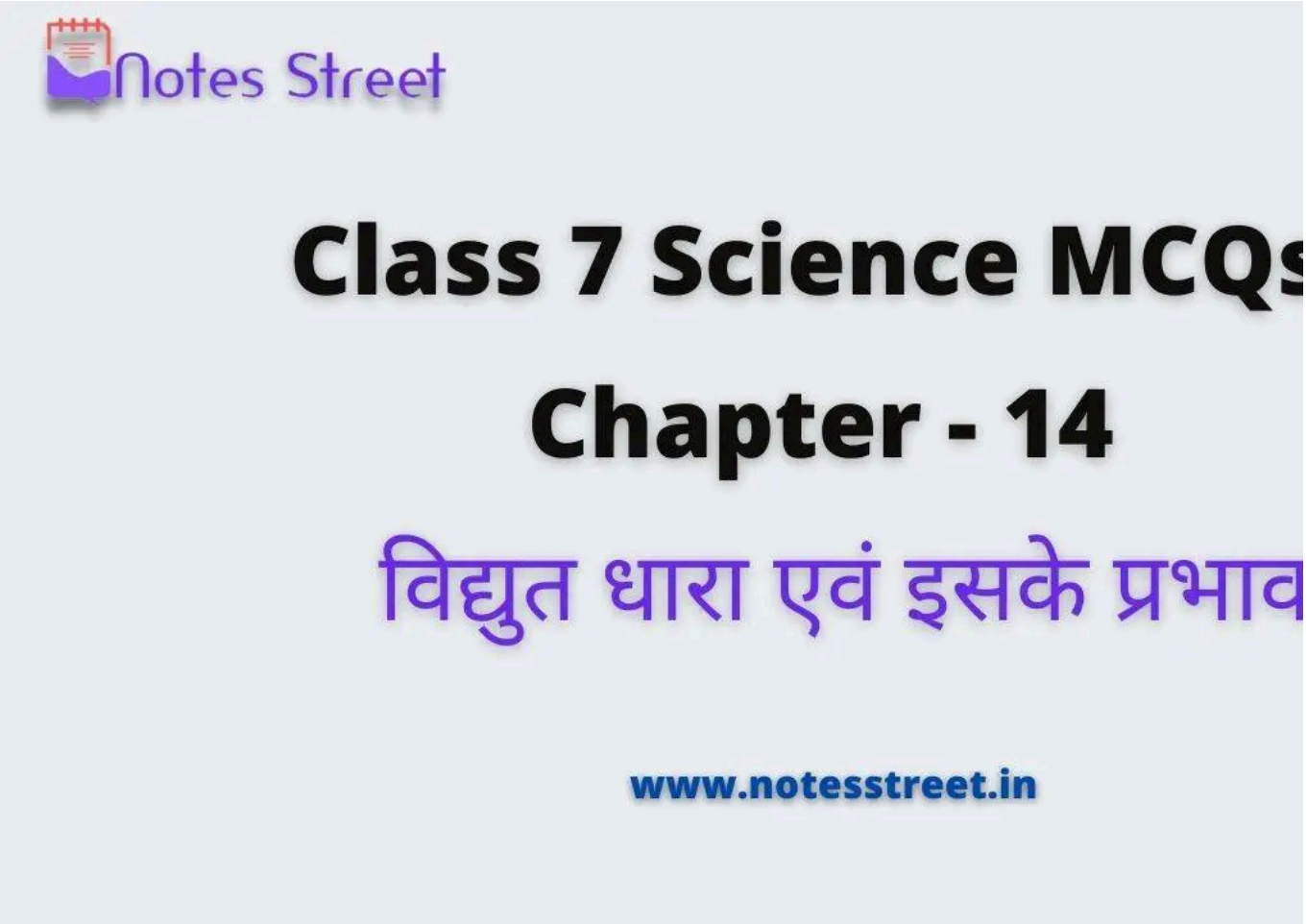

Class 7 Science MCQs Chapter – 14 विद्युत धारा एवं इसके प्रभाव

- Post category:Uncategorized

Class 7 Science MCQs Chapter – 14 विद्युत धारा एवं इसके प्रभाव For Board Exam with PDF Answer Key, students can follow these question below. Download PDF of class 7 science mcqs in hindi with answers and prepare for the exam and help students understand the concept very well. Below, we have provided the **Class 7 Science MCQ** with answers to help students complete the entire program and practice the multiple choice questions presented here with solutions. Students should review all the topics provided in your CBSE Class 7 science books and then try the MCQ questions.

By practice Class 7 Science MCQs Chapter – 14 questions, students will be able to develop different types of strategies for solving the 7th grade science MCQ. During preparation, they should carefully read the questions and then answer them. This is why students can use multiple choice questions in preparation for the class 7 exam to gain control over all the important concepts. Class 7 Science MCQs Chapter – 14 विद्युत धारा एवं इसके प्रभाव the answers to the questions and your score can be viewed when submitting the test after selecting the correct answers to the questions. You can also download class wise **notes here**

Class 7 Science MCQs Chapter – 14 विद्युत धारा एवं इसके प्रभाव

---

1. स्विच की स्थिति बदलने के क्या प्रतीक हैं ?

(a) ऑन

(b) ऑफ

(c) ऑन, ऑफ

(d) इनमें से कोई नहीं

उत्तर:- (C)

2. कौन-सी धातुएँ विद्युत का चालन करती हैं ?

(a) ताँबा

(b) एलुमिनियम

(c) (a) और (b) दोनों

(d) इनमें से कोई नहीं

उत्तर:- (C)

3. रेखाओं की स्थिति कैसी होती है ?

(a) एक रेखा लंबी

(b) दूसरी छोटी परन्तु समांतर

(c) एक रेखा लंबी, दूसरी छोटी परन्तु मोटी समांतर

(d) कोई नहीं

उत्तर:- (C)

4. विद्युत सेल में कौन-कौन से टर्मिनल होते हैं ?

(a) धन टर्मिनल

(b) ऋण टर्मिनल

(c) धन टर्मिनल, ऋण टर्मिनल

(d) कोई नहीं

उत्तर:- (C)

5. विद्युत सैल में कितनी रेखाएँ होती हैं ?

(a) एक

(b) दो

(c) तीन

(d) चार

उत्तर:- (b)

6. विद्युत चालन करने वाले अधिकांश द्रव किसके विलयन होते हैं ?

(a) अम्लों

(b) क्षारकों

(c) लवणों

(d) उपरोक्त सभी

उत्तर:- (d)

7. विद्युत बल्ब का अविष्कार किसने किया ?

(a) थॉमस अल्वा एडीसन

(b) फ्रैंकलिन

(c) मेरीक्यूरी

(d) ग्राहमवैल

उत्तरः- (a)

8. बल्ब फ्यूज कैसे होता है ?

(a) जब तंतु टूट जाता है

(b) बल्ब टूट जाता है

(c) स्विच ऑफ होने पर

(d) उपरोक्त सभी

उत्तरः- (a)

9. विद्युत सेल में कितने टर्मिनल होते हैं ?

(a) दो

(b) एक

(c) तीन

(d) चार

उत्तरः- (a)

10. तापीय प्रभाव किसे कहते हैं ?

(a) विद्युत धारा का प्रवाहित होना

(b) विद्युत धारा का प्रवाहित न होना

(c) बल्ब का जगना

(d) विद्युत का आना

उत्तरः- (b)

11.दो द्रवों A तथा B, के विद्युत चालन की जाँच करने के लिए एक संपरीक्षित्र का प्रयोग किया गया| यह देखा गया कि संपरीक्षित्र का बल्ब द्रव A के लिए चमकीला दीप्त हुआ जबकि द्रव B के लिए अत्यंत धीमा दीप्त हुआ।

(a) द्रव A, द्रव B से अच्छा चालक है।

(b) द्रव B, द्रव A से अच्छा चालक है।

(c) दोनों द्रवों की चालकता समान है।

(d) द्रवों की चालकता के गुणों की तुलना इस प्रकार नहीं की जा सकती।

उत्तर:- (b)

12. बैटरी के लिए कितने सैलों की जरूरत होती है ?

(a) दो या दो से अधिक

(b) एक

(c) तीन

(d) कोई नहीं

उत्तर:- (A)

13. किसी तार की ऊष्मा का परिमाण किस पर निर्भर करता है ?

(a) लंबाई

(b) मोटाई

(c) लंबाई और मोटाई

(d) कोई नहीं

उत्तर:- (C)

14. विद्युतलेपन कैसा प्रक्रम हैं ?

(a) अत्यंत उपयोगी

(b) प्रबल

(c) स्थाई

(d) निश्चित

उत्तर:- (a)

15. सैलों में कौन-सा चिन्ह अंकित होता है ?

(a) धनात्मक +

(b) ऋणात्मक –

(c) धनात्मक +, ऋणात्मक –

(d) धनात्मक –

उत्तर:- (C)

16. सैलों को संयोजित कैसे किया जाता है ?

(a) धन टर्मिनल को ऋण टर्मिनल से

(b) ऋण को धन से

(c) धन टर्मिनल को धन टर्मिनल से

(d) ऋण टर्मिनल को ऋण टर्मिनल से

उत्तर:- (a)

17. बैटरी किसे कहते हैं ?

(a) दो या अधिक सैलों का संयोजन

(b) एक सैल का संयोजन

(c) कोई सैल नहीं

(d) उपरोक्त सभी

उत्तर:- (a)

18. बल्ब दीप्त कब होता है ?

(a) विद्युत धारा प्रवाहित होने पर

(b) विद्युत धारा न होने पर

(c) (a) और (b) दोनों

(d) कोई नहीं

उत्तर:- (a)

19. विद्युत धारा का प्रयोग कहाँ किया जाता है ?

(a) चुंबकों के निर्माण

(b) विदयुत उपकरण चलाने के लिए

(c) चुंबकों के निर्माण तथा विद्युत उपकरण के लिए

(d) उपरोक्त सभी

उत्तर:- (d)

20. फिलामेन्ट किसे कहते हैं ?

(a) बल्ब में एक पतले तार को

(b) बल्ब में दो तार को

(c) बल्ब के स्विच को

(d) उपरोक्त सभी

उत्तर:- (a)

21. कुछ बैटरी युक्तियों के नाम लिखें ?

(a) ट्राजिस्टर

(b) रेडियो

(c) टी.वी. रिमोट

(d) उपरोक्त सभी

उत्तर:- (d)

22. अत्यधिक धारा प्रवाहित होने का क्या कारण है ?

(a) एक ही सॉकेट से कई युक्तियों का संयोजन

(b) विदयुत रोधन के हटने के कारण

(c) परिपथ टूट जाता है

(d) उपरोक्त सभी

उत्तरः- (d)

23. विद्युत धारा के किस प्रभाव के कारण। 'बल्ब का तंतु उच्च ताप तक गर्म होकर दीप्त हो जाता है ?

(a) ऊष्मीय प्रभाव के कारण

(b) उच्च ताप के कारण

(c) विद्युत ऊष्मीय के कारण

(d) धीमे ताप के कारण

उत्तरः- (a)

24. दो सैलों की बैटरी बनाने के लिए एक सैल के ऋण टर्मिनल को दूसरे सैल के ऋण टर्मिनल से संयोजित करते हैं ?

(a) सत्य

(b) असत्य

(c) सत्य/असत्य

(d) कोई नहीं

उत्तरः- (b)

25. विद्युत धारा कौन-सा प्रभाव उत्पन्न करती है ?

(a) चुम्बकीय प्रभाव

(b) विद्युत लेपन

(c) गुरुत्वाकर्षण

(d) घर्षण

उत्तरः- (a)

26. विद्युत धारा प्रभावित होने व उसके । पास रखी चुंबकीय सूई में विक्षेप होता है, 'ये किसने देखा था' ?

(a) हैंस क्रिश्चियनऑस्ट्रेड

(b) अलेगजेंडर फलैंमिंग

(c) मैरी क्यूरी

(d) कोई नहीं

उत्तर:- (a)

27. विद्युत घंटी में विद्युत चुंबक होता है ।

(a) सत्य

(b) असत्य

(c) सत्य/असत्य

(d) कोई नहीं

उत्तर:- (a)

28. विद्युत चुंबक, चुंबकीय पदार्थों को आकर्षित नहीं करता ।

(a) सत्य

(b) असत्य

(c) सत्य/असत्य

(d) कोई नहीं

उत्तर:- (b)

29. विद्युत चुंबक किसे कहते है ?

(a) विद्युत तार से लिपटी विद्युत धारावाही कुंडली को

(b) लोहे की छड़ को

(c) तांबे की छड़ को

(d) स्टील की तार को

उत्तर:- (a)

30. _____ विद्युत सैल के प्रतीक में लंबी रेखा, उसके _____टर्मिनल को निरूपित करती है ?

(a) धन +

(b) ऋण –

(c) धन, ऋण

(d) कोई नहीं

उत्तर:- (a)

31. फ्यूज़ क्या है ?

(a) सुरक्षा युक्ति

(b) ताप यंत्र

(c) हानिकारक

(d) नरम यंत्र

उत्तर:- (a)

32. जब किसी फ्यूज में से किसी निश्चित सीमा से अधिक विद्युत धारा प्रवाहित होती है, तो वह पिघलकर टूट जाता है ?

(a) सत्य

(b) असत्य

(c) सत्य/असत्य

(d) कोई नहीं

उत्तर:- (a)

33. जब विद्युत धारा का मान बढ़ जाए तो क्या होता है ?

(a) आग लग सकती है

(b) सुरक्षा सीमा टूट सकती है

(c) परिपथ टूट जाता है

(d) उपरोक्त सभी

उत्तर:- (d)

34. वह पदार्थ अपने से होकर विद्युत धारा को प्रवाहित होने देते हैं, वे विद्युत के क्या कहलाते हैं ?

(a) विद्युत के कुचालक

(b) विद्युत के सुचालक

(c) द्रव के चालक

(d) द्रव के कुचालक

उत्तर:- (b)

35. कौन विद्युत धारा के प्रवाहित होने पर भी दीप्त होता है ?

(a) LCD

(b) LED

(c) DVD

(d) PBC

उत्तर:- (b)

Please Share This Share this content

- Opens in a new window

- Opens in a new window

- Opens in a new window

- Opens in a new window

- Opens in a new window

- Opens in a new window

- Opens in a new window

- Opens in a new window

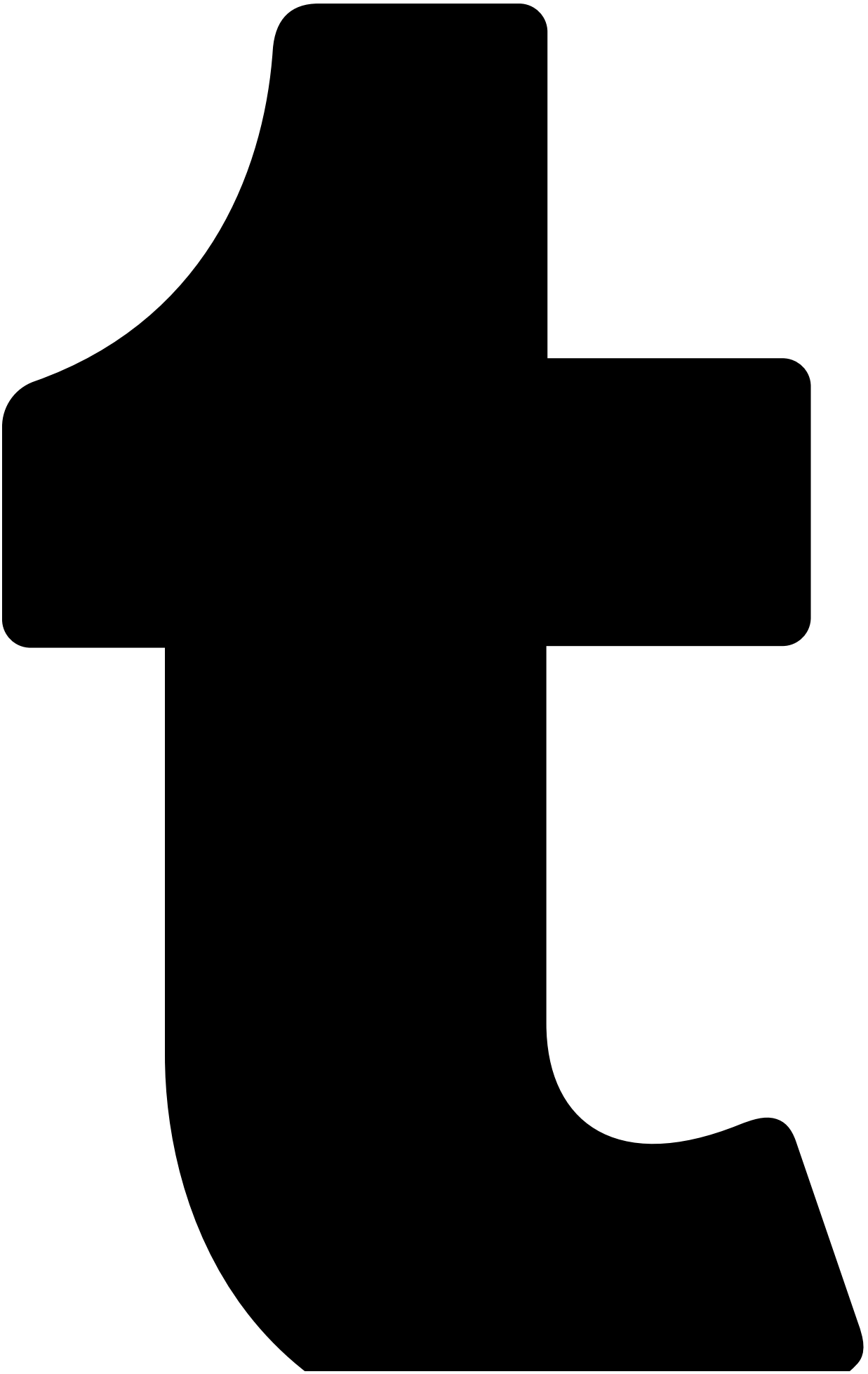

- Opens in a new window



- Opens in a new window

You Might Also Like

NCERT Solutions For Class 6 English Ch – 01 Who Did Patrick's Homework? & A House, A Home

August 6, 2023

Bihar Board Class 9 वर्णिका भाग 1 Hindi Chapter – 5 मधुबनी की चित्रकला

June 8, 2023

CUET (UG) Biology वंशागति का आणविक आधार MCQs With Answer

January 21, 2023