Skip to content

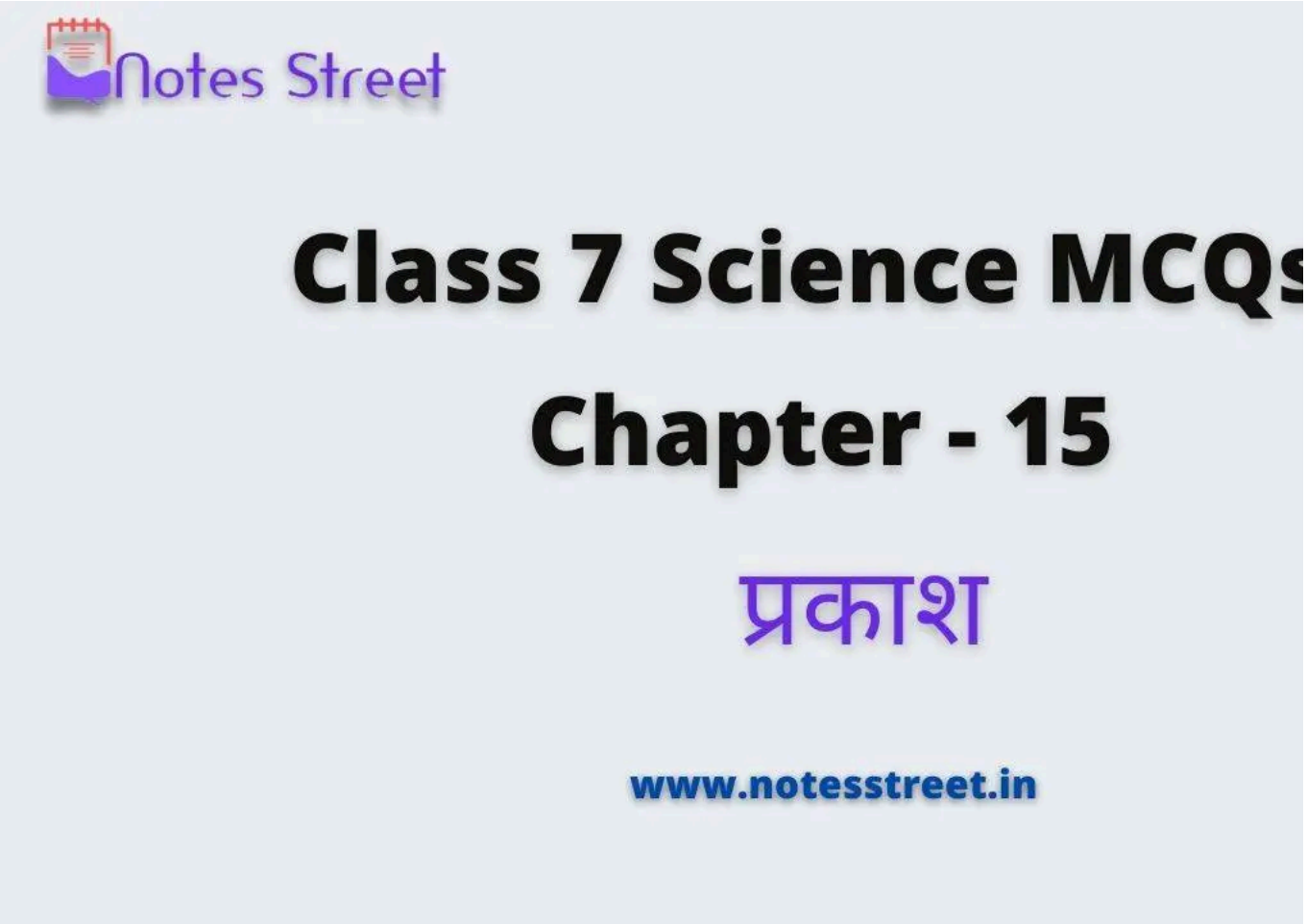

Class 7 Science MCQs Chapter – 15 प्रकाश

- Post category:Uncategorized

Class 7 Science MCQs Chapter – 15 प्रकाश For Board Exam with PDF Answer Key, students can follow these question below. Download PDF of class 7 science mcqs in hindi with answers and prepare for the exam and help students understand the concept very well. Below, we have provided the **Class 7 Science MCQ** with answers to help students complete the entire program and practice the multiple choice questions presented here with solutions. Students should review all the topics provided in your CBSE Class 7 science books and then try the MCQ questions.

By practice Class 7 Science MCQs Chapter – 15 questions, students will be able to develop different types of strategies for solving the 7th grade science MCQ. During preparation, they should carefully read the questions and then answer them. This is why students can use multiple choice questions in preparation for the class 7 exam to gain control over all the important concepts. Class 7 Science MCQs Chapter – 15 प्रकाश the answers to the questions and your score can be viewed when submitting the test after selecting the correct answers to the questions. You can also download class wise **notes here**

Class 7 Science MCQs Chapter – 15 प्रकाश

---

1. प्लेट किस की भाँति कार्य करती हैं ?

(a) समतल दर्पण

(b) उत्तल दर्पण

(c) (a) और (b) दोनों

(d) अवतल दर्पण

Ans:- (a)

2. रोगीवाहन का रास्ता रोके बिना उसे आगे जाने दें, ये हमारा —— है ?

(a) कर्तव्

(b) अधिकार

(c) कानून

(d) उपरोक्त सभी

Ans:- (a)

3. अवतल दर्पण से कैसा प्रतिबिंब बनता है ?

(a) टेड़ा

(b) छोटा

(c) बड़ा

(d) सीधा

Ans:- (b)

4. चम्मच का पृष्ठ कैसा होता है ?

(a) वक्रित चमकदार

(b) गोलीय

(c) अवतल

(d) उत्तल

Ans:- (a)

5. लेंस..... होते हैं ?

(a) पारदर्शी

(b) अपारदर्शी

(c) आभासी

(d) उपरोक्त सभी

Ans:- (a)

6. प्रकाश का परावर्तन क्या कहलाता है ?

(a) दर्पण अपने ऊपर पड़ने वाले प्रकाश की दिशा को बदलना

(b) दर्पण के नीचे प्रकाश पड़ना

(c) प्रकाश की दिशा न बदलना

(d) उपरोक्त सभी

Ans:- (a)

7. आवर्धक (हैंडलेंस) किसलिए प्रयोग करते है ?

(a) बहुत छोटे प्रिंट को पढ़ने के लिए

(b) बड़े प्रिंट को पढ़ने के लिए

(c) बड़े या छोटे प्रिंट के लिए

(d) उपरोक्त सभी

Ans:- (a)

8. प्लेट किस की भाँति कार्य किरण पुंज को कहाँ-कहाँ देखा जाता है ?

(a) समतल दर्पण

(b) उत्तल दर्पण

(c) क और ख दोनों

(d) अवतल दर्प

Ans:- (a)

9. प्रकाश की दिशा को परिवर्तित कैसे कर सकते है ?

(a) चमकदार वस्तु पर प्रकाश डालना

(b) स्टेनलेस इस्पात की चमकदार प्लेट पर

(c) इस्पात की चमकदार प्लेट पर प्रकाश डालना

(d) उपरोक्त सभी

Ans:- (d)

10. उत्तल दर्पण द्वारा बना प्रतिबिंब कैसा होता है ?

(a) सीधा

(b) आभासी

(c) उल्टा

(d) क और ख दोनों

Ans:- (d)

11. अभिसारी लेंस कौन से होते है ?

(a) उत्तल लेंस पर पड़ने वाले प्रकाश को अंदर की ओर मोड़ देता हैं

(b) आभासी लेंस

(c) उत्तल लेंस

(d) जो प्रकाश को बाहर की ओर मोड़ देता है

Ans:- (a)

12. जल का पृष्ठ कैसे कार्य करता है ?

(a) दर्पण की भाँतिcorrect

(b) स्टील की भाँति

(c) आकाश की भाँति

(d) a और b दोनों

Ans:- (a)

13. उत्तल दर्पण किसे कहते हैं ?

(a) परावर्तक पृष्ठ उत्तल

(b) परावर्तक पृष्ठ अवतल

(c) परावर्तक पृष्ठ समतल

(d) परावर्तक पृष्ठ गोलीय है

Ans:- (a)

14. अवतल लेंस की बनावट कैसी होती है ?

(a) किनारे मोटे

(b) बीच में पतले

(c) किनारों की अपेक्षा बीच में पतले महसूस होते हैं

(d) किनारे पतले

Ans:- (c)

15. प्रतिबिंब कौन-कौन से होते हैं ?

(a) वास्तविक प्रतिबिंब

(b) आभासी प्रतिबिंब

(c) वास्तविक प्रतिबिंब, आभासी प्रतिबिंब

(d) कोई नहीं

Ans:- (c)

16. स्कूटर या कार के पार्श्व दर्पण में सभी वस्तुओं के प्रतिबिंब..... दिखाई देते हैं ?

(a) छोटे

(b) बड़े

(c) बराबर

(d) कोई नहीं

Ans:- (a)

17. अवतल दर्पण किसे कहते हैं ?

(a) गोलीय दर्पण का परावर्तक पृष्ठ अवतल

(b) परावर्तक पृष्ठ उत्तल

(c) परावर्तक पृष्ठ समतल

(d) उपरोक्त सभी

Ans:- (a)

18. दाँतों का बड़ा प्रतिबिंब देखने के लिए कौन से दर्पण का उपयोग किया जाता है ?

(a) अवतल दर्पण

(b) उत्तल दर्पण

(c) समतल दर्पण

(d) कोई नही

Ans:- (a)

19. वास्तविक प्रतिबिंब किसे कहते हैं ?

(a) पर्दे पर बनने वाले प्रतिबिंब को

(b) नीचे बनने वाले प्रतिबिंब को

(c) आसमान पर बनने वाले प्रतिबिंब को

(d) पानी पर बनने वाले प्रतिबिंब को

Ans:- (a)

20. जो प्रतिबिंब प्राप्त नहीं होता, उसे क्या कहते हैं ?

(a) आभासी प्रतिबिंब

(b) समतल

(c) उत्तल

(d) प्रतिभासी प्रतिबिंब

Ans:- (a)

21. लेंस का उपयोग कहाँ-कहाँ किया जाता है ?

(a) चश्में

(b) दूरदर्शकों (दूरबीनों)

(c) सूक्ष्मदर्शियों

(d) उपरोक्त सभी

Ans:- (d)

22. अवतल दर्पण से कैसा प्रतिबिंब बनता है ?

(a) टेड़ा

(b) छोटा

(c) बड़ा

(d) सीधा

Ans:- (b)

23. सूर्य के प्रकाश में कितने रंग (वर्ण) है ?

(a) 7

(b) 6

(c) 4

(d) 2

Ans:- (a)

24. इंद्रधनुष कब दिखाई देता है ?

(a) वर्षा के पश्चात

(b) वर्षा से पहले

(c) रात को

(d) दिन में

Ans:- (a)

25. गोलीय दर्पण का सामान्य उदाहरण है।

(a) वक्रित दर्पण

(b) अवतल

(c) उत्तल

(d) समतल

Ans:- (a)

26. आँख, नाक, कान, गले का निरीक्षण करते समय कौन से दर्पण का प्रयोग किया जाता है ?

(a) उत्तल दर्पण

(b) अवतल दर्पण

(c) समतल दर्पण

(d) उपरोक्त सभी

Ans:- (b)

27. उत्तल लेंस की बनावट कैसी होती है ?

(a) किनारों से पतले

(b) बीच से मोटे

(c) किनारों से पतले, बीच से मोटे

(d) किनारों से मोटे

Ans:- (c)

28. किरण पुंज को कहाँ-कहाँ देखा जाता है ?

(a) टॉर्च में

(b) स्कूटर, कार इंजनों के हैडलैंप में

(c) टॉवर की सर्चलाइट

(d) उपरोक्त सभी

Ans:- (d)

29. केकड़े के नेत्र कैसे होते हैं ?

(a) छोटे

(b) बड़े

(c) मोटे

(d) पतले

Ans:- (a)

30. किसी पृष्ठ पर पड़ने वाली प्रकाश -किरण को क्या कहते हैं ?

(a) आपतित किरण

(b) परावर्तित किरण

(c) क और ख दोनों

(d) इनमें से कोई नहीं

Ans:- (a)

31. किसी पृष्ठ पर पड़ने वाली प्रकाश -किरण को क्या कहते हैं ?

(a) आपतित किरण

(b) परावर्तित किरण

(c) क और ख दोनों

(d) इनमें से कोई नही

Ans:- (a)

32. नेत्र की आकृति कैसी होती है ?

(a) चकोर

(b) गोलाकार

(c) चपटा

(d) लम्बा

Ans:- (b)

Please Share This Share this content

- Opens in a new window



- Opens in a new window

- Opens in a new window

- Opens in a new window

- Opens in a new window

- Opens in a new window

- Opens in a new window

- Opens in a new window

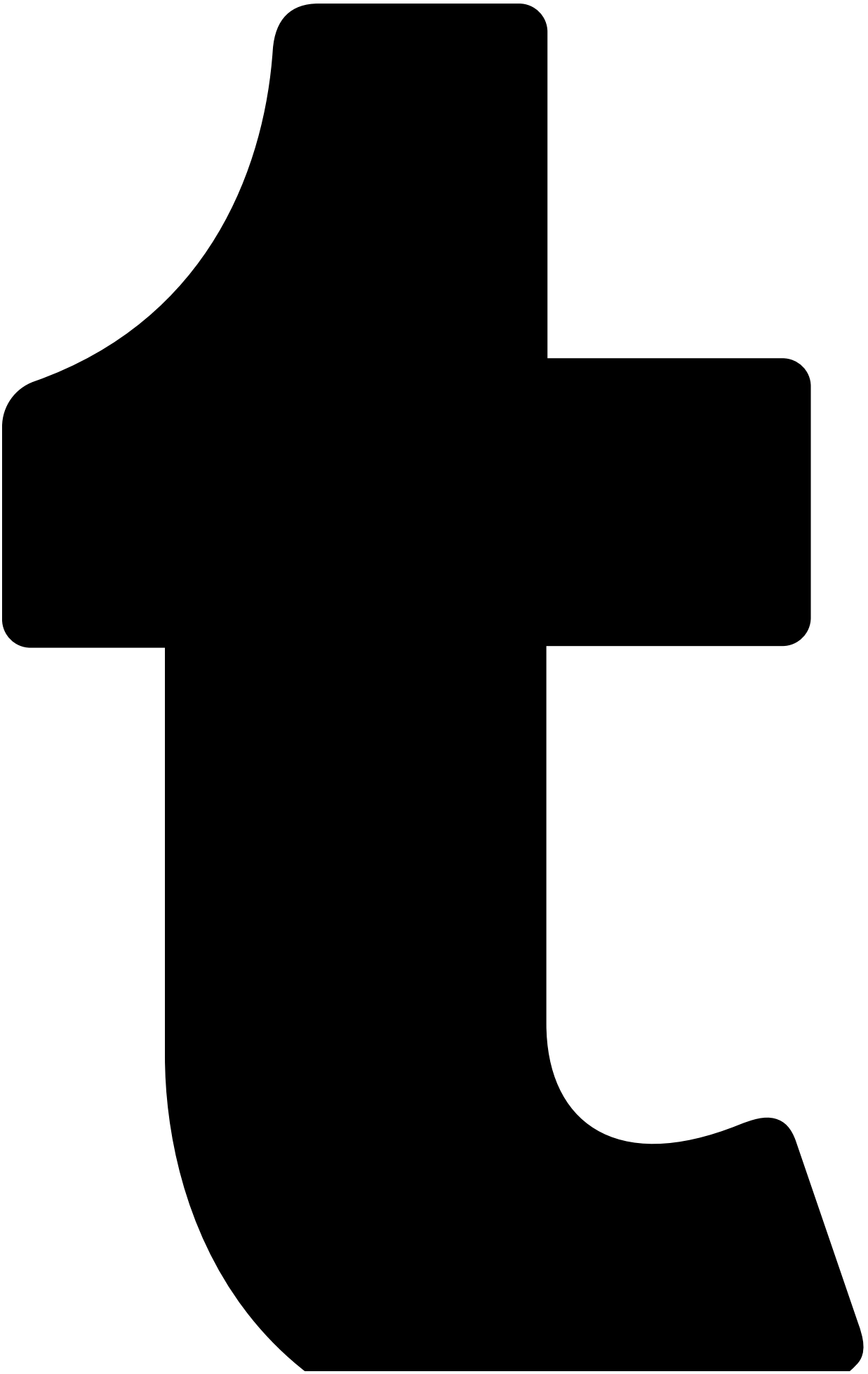

- Opens in a new window



- Opens in a new window

You Might Also Like

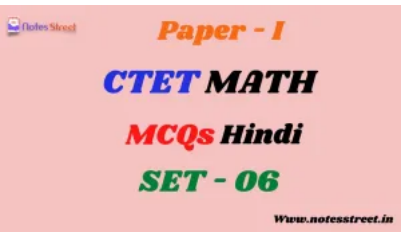

CTET 2022 Math MCQs In Hindi SET – 06

December 26, 2022

NCERT Class 10 Science Online Test

August 27, 2022

Class 11 Chemistry MCQs Chapter – 11 The p-Block Elements

June 1, 2023