Skip to content

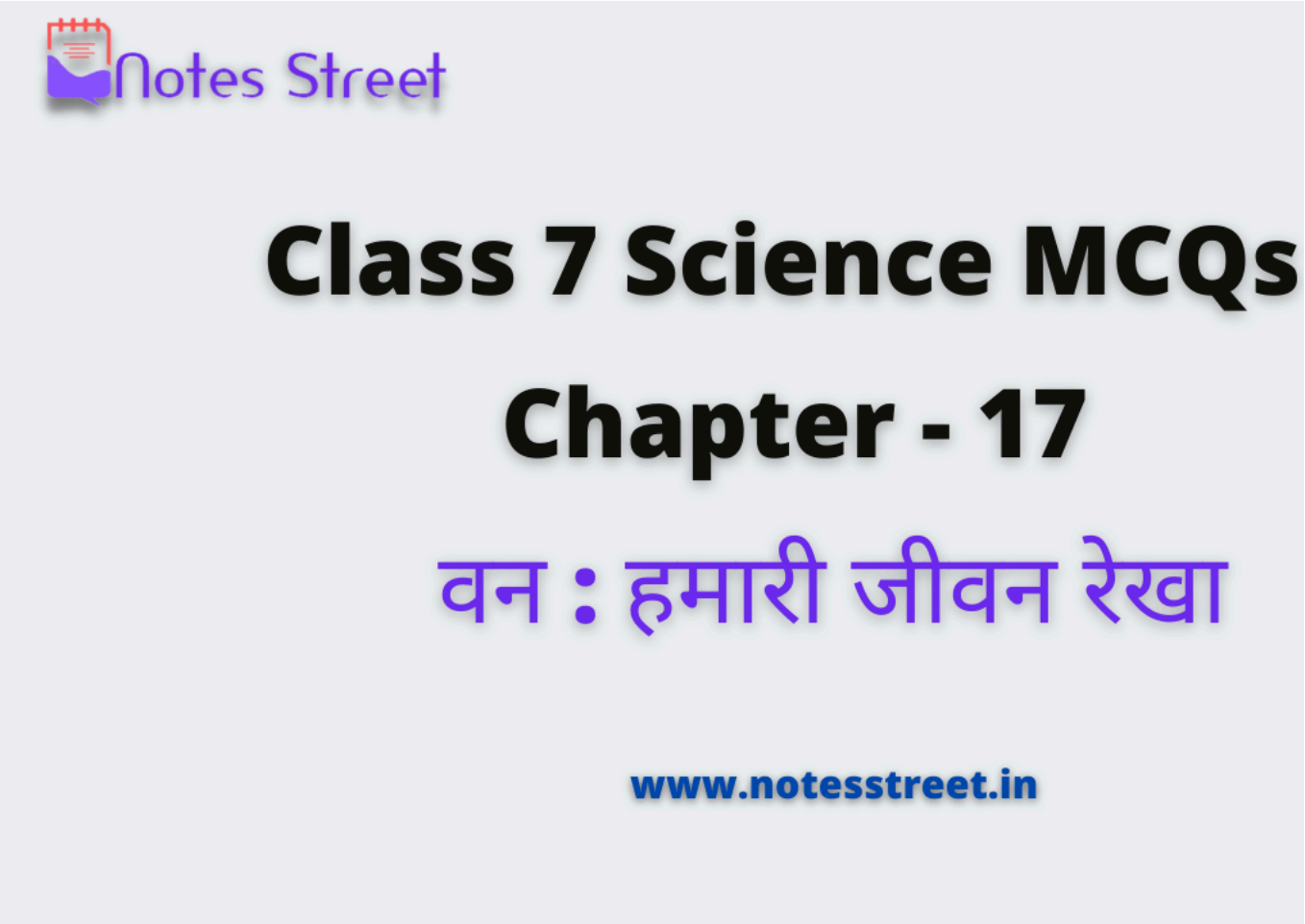

Class 7 Science MCQs Chapter – 17 वन हमारी जीवन रेखा

- Post category:Uncategorized

Class 7 Science MCQs Chapter – 17 वन : हमारी जीवन रेखा For Board Exam with PDF Answer Key, students can follow these question below. Download PDF of class 7 science mcqs in hindi with answers and prepare for the exam and help students understand the concept very well. Below, we have provided the **Class 7 Science MCQ** with answers to help students complete the entire program and practice the multiple choice questions presented here with solutions. Students should review all the topics provided in your CBSE Class 7 science books and then try the MCQ questions.

By practice Class 7 Science MCQs Chapter – 17 questions, students will be able to develop different types of strategies for solving the 7th grade science MCQ. During preparation, they should carefully read the questions and then answer them. This is why students can use multiple choice questions in preparation for the class 7 exam to gain control over all the important concepts. Class 7 Science MCQs Chapter – 17 वन : हमारी जीवन रेखा the answers to the questions and your score can be viewed when submitting the test after selecting the correct answers to the questions. You can also download class wise **notes here**

Class 7 Science MCQs Chapter – 17 वन : हमारी जीवन रेखा

1. रात्रि में चंद्रमा के घटते क्रम से न दिखाई देना क्या कहलाता है ?

(a) पूर्णिमा

(b) अमावस्या

(c) चंद्रग्रहण

(d) पूर्णग्रहण

Ans:- (c)

2. ग्रह कौन-से होते हैं ?

(a) जो टिमटिमाते हैं

(b) जो टिमटिमाते नहीं

(c) जो प्रकाश देते हैं

(d) जो प्रकाश नहीं देते

Ans:- (b)

3. पृथ्वी की एक परिक्रमा अपने अक्ष पर एक घूर्णन द्वारा कौन तय करता है ?

(a) चंद्रमाcorrect

(b) सूर्य

(c) उपग्रह

(d) ग्रह

Ans:- (b)

4. पृथ्वी किस की परिक्रमा करती है ?

(a) चंद्रमा

(b) सूर्य

(c) a और b दोनों

(d) अन्य ग्रह की

Ans:- (b)

5. निम्नलिखित में से कौन सौरमंडल का सदस्य नहीं है?

(a) क्षुद्रग्रह

(b) उपग्रह

(c) नक्षत्र

(d) धूमकेतु

Ans:- (c)

6. चंद्रमा पर क्या नहीं होता ?

(a) वायुमंडल

(b) जल

(c) क और ख दोनों

(d) इनमें से कोई नहीं

Ans:- (c)

7. नील आर्मस्ट्रांग ने चंद्रमा पर कदम कब रखा ?

(a) 21 जुलाई 1968

(b) 20 जुलाई 1969

(c) 21 जुलाई 1969

(d) 20 जुलाई 1968

Ans:- (c)

8. चंद्रमा के प्रदीप्त भाग की विभिन्न आकृतियों को क्या कहते हैं ?

(a) चंद्रमा की कलाएं

(b) चंद्रमा के रूप

(c) चंद्रमा की कृतियां

(d) चंद्रमा के भाग

Ans:- (a)

9. निम्नलिखित में से कौनसा सूर्य का ग्रह नहीं है?

(a) सीरियस

(b) बुध

(c) शनि

(d) मंगल

Ans:- (a)

10. चंद्रमा किसकी परिक्रमा करता है ?

(a) आकाश

(b) सूर्य

(c) पृथ्वी

(d) ग्रह

Ans:- (c)

11. किस स्थान से देखने पर चंद्रमा का सूर्य द्वारा प्रदीप्त भाग आकार में घटता है ?

(a) आगे से

(b) पीछे से

(c) आकाश

(d) पृथ्वी

Ans:- (b)

12. आकाश में अत्यधिक संख्या में क्या दिखाई देते है ?

(a) तारें

(b) जुगनू

(c) चंद्रमा

(d) सूर्य

Ans:- (a)

13. रात्रि के आकाश में सबसे अधिक प्रदीप्त पिंड कौन -सा है ?

(a) सूर्य

(b) तारा

(c) चंद्रमा

(d) जुगनू

Ans:- (c)

14. जब चंद्रमा की पूर्ण चक्रिका दिखाई देती है उस दिन को क्या कहते हैं ?

(a) पूर्णिमा

(b) अमावस्या

(c) एकादशी

(d) दूज का चाँद

Ans:- (a)

15. एक पूर्णिमा से दूसरी पूर्णिमा के कैलेंडर को क्या कहते हैं ?

(a) एक माह

(b) एक अवधि

(c) दो महीने

(d) एक वर्ष

Ans:- (b)

16. अंतरिक्ष में प्रत्येक वस्तु को कहा जाता है

(a) ग्रह

(b) सौर प्रणाली

(c) आकाशगंगा

(d) खगोलीय पिंड

Ans:- (d)

17. चंद्रमा पृथ्वी के चारों ओर अपना एक चक्कर पूरा करता है

(a) 27 दिन में

(b) 28 दिन में

(c) 29 दिन में

(d) 30 दिन में

Ans:- (a)

18. खगोलीय पिंडों के अध्ययन को कहते है

(a) आकाशगंगा

(b) खगोल विज्ञान

(c) ज्योतिष

(d) अंतरिक्ष यात्री

Ans:- (b)

19. चांद पर कदम रखने वाले पहले इंसान कौन थे?

(a) एडविन एल्ड्रिन

(b) नील आर्मस्ट्रांग

(c) जेम्स बॉन्ड

(d) नील पटेल

Ans:- (b)

20. पृथ्वी से सूर्य की लगभग दूरी कितनी है?

(a) 10 करोड़ किलोमीटर

(b) 15 करोड़ किलोमीटर

(c) 20 करोड़ किलोमीटर

(d) 25 करोड़ किलोमीटर

Ans:- (b)

21. सूर्य के बाद पृथ्वी से निकटतम तारा कौन सा है?

(a) अल्फा सेंटौरी

(b) प्रॉक्सिमा सेंटॉरी

(c) ध्रुव तारा

(d) आकाशगंगा

Ans:- (b)

22. सबसे अधिक चन्द्रमा वाले ग्रह का नाम क्या है?

(a) शनि

(b) बृहस्पति

(c) यूरेनस

(d) नेपच्यून

Ans:- (b)

23. लंबी दूरी पर तारों और ग्रहों के बीच की दूरी को मापने के लिए इकाई क्या है?

(a) किलोमीटर

(b) मीटर

(c) प्रकाश वर्ष

(d) उपरोक्त सभी

Ans:- (c)

24. अंतरिक्ष वस्तुओं को देखने के लिए किस उपकरण का उपयोग किया जाता है?

(a) सूक्ष्मदर्शी

(b) दूरदर्शी

(c) विद्युतदर्शी

(d) कोई नहीं

Ans:- (b)

25. उस ग्रह का नाम क्या है जिसके चारों ओर वलय हैं?

(a) बृहस्पति

(b) मंगल

(c) शनि

(d) पृथ्वी

Ans:- (c)

26. जिस ग्रह पर जीवन है उसका क्या नाम है?

(a) मंगल

(b) पृथ्वी

(c) शुक्र

(d) बृहस्पति

Ans:- (b)

27. खगोलीय पिंड कौन -से है ?

(a) तारें

(b) ग्रह

(c) चंद्रमा के अन्य पिंड

(d) उपरोक्त सभी

Ans:- (d)

28. भारतीय अंतरिक्ष अनुसंधान संगठन का क्या नाम है?

(a) नासा

(b) इसरो

(c) रोस्कोसमोस

(d) सीएनएसए

Ans:- (b)

29. अंतरिक्ष से पृथ्वी की सतह पर गिरने वाली वस्तुओं को क्या कहा जाता है?

(a) क्षुद्रग्रह

(b) धूमकेतु

(c) उल्का

(d) उल्कापिंड

Ans:- (d)

Please Share This Share this content

- Opens in a new window



- Opens in a new window

- Opens in a new window

- Opens in a new window

- Opens in a new window

- Opens in a new window

- Opens in a new window

- Opens in a new window

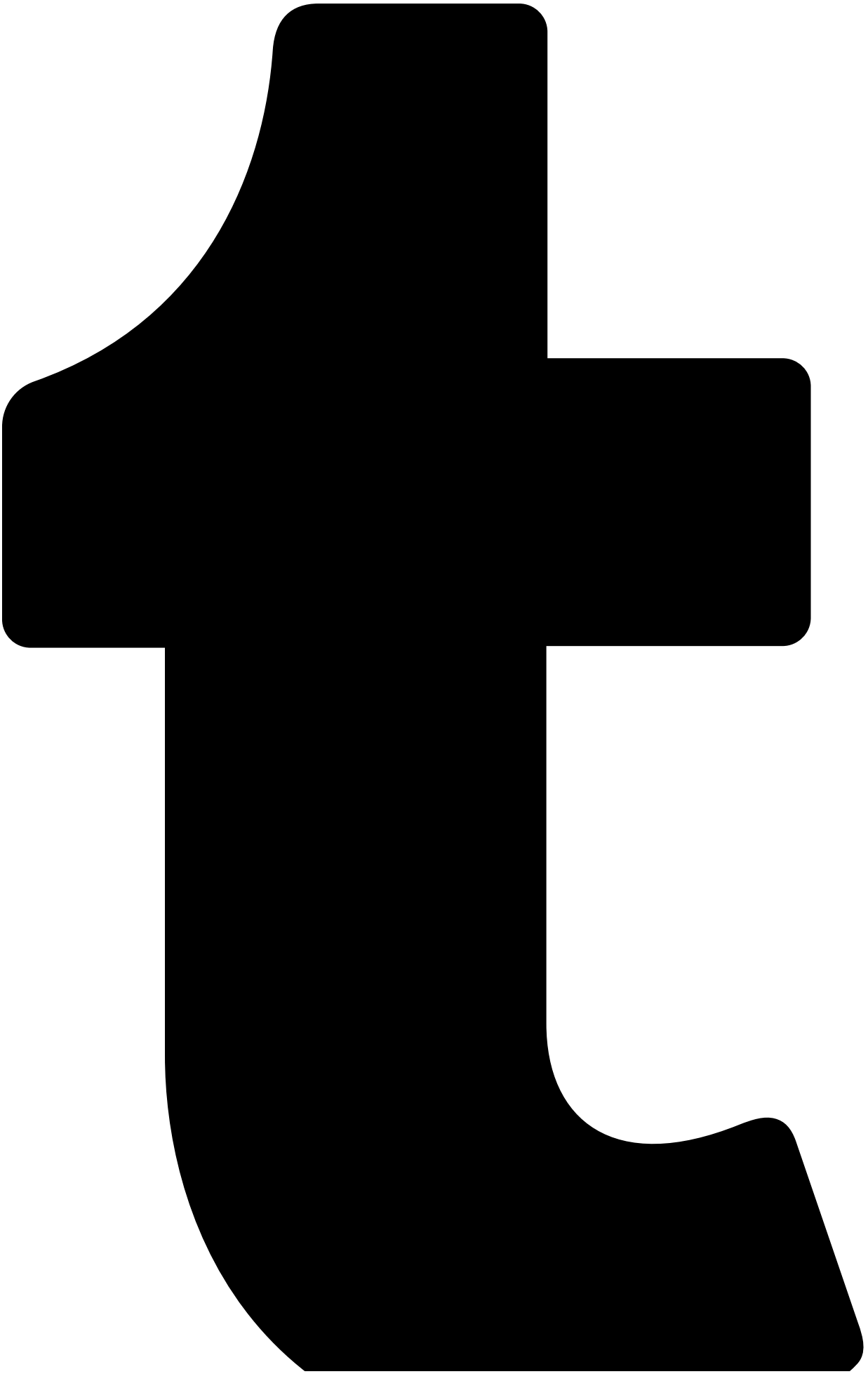

- Opens in a new window



- Opens in a new window

You Might Also Like

NCERT Class 9 History MCQs Chapter – 4 Forest Society and Colonialism

February 11, 2023

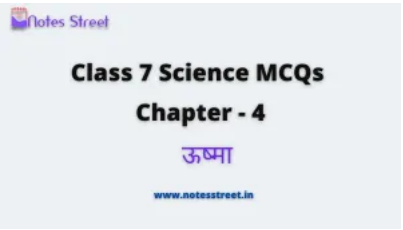

Class 7 Science MCQs Chapter – 4 ऊष्मा

March 11, 2022

कांग्रेस सोशलिस्ट पार्टी (1934)

December 4, 2022