Skip to content

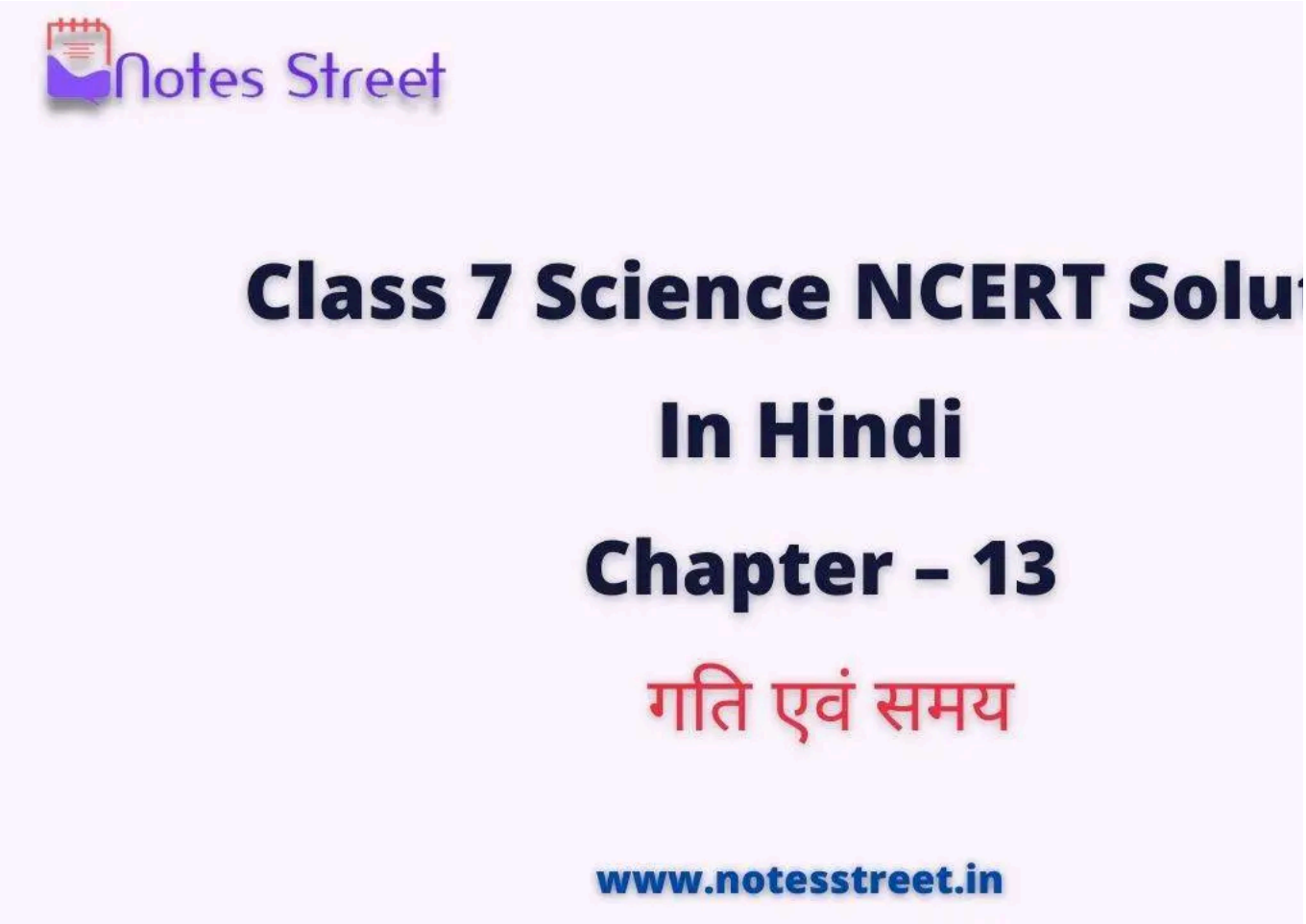

Class 7 Science NCERT Solution In Hindi Chapter – 13 गति एवं समय

- Post category:Class 7 Science NCERT Solution In Hindi

Here we are providing Class 7 Science NCERT Solution In Hindi Chapter – 13 गति एवं समय include all questions presented in the NCERT Science Class 7 books. Candidates can enlist the help of the NCERT Science Class 7 solutions in Hindi on the next page and gain a deeper understanding of the concepts. NCERT Class 7 Science Solutions Chapter 7 Weather, Climate, and Animal Climate Adaptation Class 7 Science NCERT Solution In Hindi Chapter – 13 गति एवं समय is designed by our team of subject matter experts to help students prepare for exams. Hindi students can view the PDF of the NCERT Level 7 Science Solutions on the page below. From the NCERT Science Book Hindi Questions and Answers on this page, students will learn how to correctly solve NCERT problems.

Remember that the NCERT Class 7 Science Book Solution is the best resource for a good study of the 18 chapters. Use the NCERT Class 7 Science Book Solution as a reference and keep practicing with the answers to questions and exercises until you improve your answers to all chapters of your Class 7 Science Program. Class 7 Science NCERT Solution In Hindi Chapter – 13 गति एवं समय will help you solve all NCERT Class 7 Science questions chapter 13 smoothly.

Class 7 Science NCERT Solution In Hindi Chapter – 13 **गति एवं समय**

अभ्यास

प्रश्न 1. निम्नलिखित गतियों का वर्गीकरण सरल रेखा के अनुदिश, वर्तुल तथा दोलन गति में कीजिए:

(क) दौड़ते समय आपके हाथों की गति

(ख) सीधी सड़क पर गाड़ी को खींचते घोड़े की गति

(ग) 'मैरी गो राउंड' झूले में बच्चे की गति

(घ) 'सी-सॉ' झूले पर बच्चे की गति

(च) विद्युत घंटी के हथौड़े की गति

(छ) सीधे पुल पर रेलगाड़ी की गति

उत्तर:- (क) दोलन गति

(ख) सरल रेखा के अनुदिश

(ग) वर्तुल गति

(घ) दोलन गति

(च) दोलन गति

(छ) सरल रेखा के अनुदिश

प्रश्न 2. निम्नलिखित में कौन-सा कथन सही नहीं हैं?

(क) समय का मूल मात्रक सेकंड है।

(ख) प्रत्येक वस्तु नियत चाल से गति करती है।

(ग) दो शहरों के बीच की दूरियाँ किलोमीटर में मापी जाती हैं।

(घ) किसी दिए गए लोलक का आवर्तकाल नियत नहीं होता।

(च) रेलगाड़ी की चाल m/h में व्यक्त की जाती है।

उत्तर:- (ख), (घ) और (च) सही नहीं हैं

प्रश्न 3. कोई सरल लोलक 20 दोलन पूरे करने में 32s लेता है। लोलक का आवर्तकाल क्या है?

उत्तर:- दोलन की संख्या = 20 दोलन पूरे करने के लिए समय 32s आवर्तकाल = समय / दोलन =32/20 = 1.6 s

प्रश्न 4. दो स्टेशनों के बीच की दूरी 240 km है। कोई रेलगाड़ी इस दूरी को तय करने में 4 घंटे लेती है। रेलगाड़ी की चाल परिकलित कीजिए।

उत्तर:- दो स्टेशनों के बीच की दूरी = 240km दूरी तय करने में समय 4h चाल = दूरी / समय = 240/4 = 60km/hr

प्रश्न 5. किसी कार के पथमापी का 08:30AM पर पाठ्यांक 57321.0km है। यदि 08:50 AM पर पथमापी का पाठ्यांक परिवर्तित होकर 57336.0km हो जाता है, तो कार द्वारा चली गयी दूरी कितनी है? कार की चाल km/min में परिकलित कीजिए। इस चाल को km/h में भी व्यक्त कीजिए ।

उत्तर:- आरंभिक पथमापी का पाठ्यांक = 57321.0km अंतिम पथमापी का पाठ्यांक = 57336.0km कार के द्वारा तय की गई दूरी = 57336.057321.0km = 15 km कार 8:30 am बजे चलती है और 8:50 am बजे रुकती है दूरी तय करने के लिए कार के द्वारा लिया गया समय = (8:50 – 8:30) = 20 min तय करी गई दूरी = 15 km चाल = दूरी/समय = 15/20 = 0.75 km/min हम जानते हैं कि, 60min = 1 hr 20 min = (1/60) x 20 = 1/3 hr कार के द्वारा लिया गया समय = 1/3 hr चाल = दूरी/समय 15/(1/3) = 45km/hr

प्रश्न 6. सलमा अपने घर से साइकिल पर विद्यालय पहुँचने में 15 मिनट लेती है। यदि साइकिल की चाल 2 m/s है, तो घर से विद्यालय की दूरी परिकलित कीजिए।

उत्तर:- सलमा के द्वारा अपने घर से विद्यालय पहुंचने तक लिया गया समय = 15 min = 15 x 60 = 900s साइकिल की चाल = 2 m/s चाल = दूरी/समय तय की गई दूरी | = चाल x समय = 2 x 900 = 1800m 1000m = 1km 1800m = (1/1000) x 1800 = 1.8km

प्रश्न 7. निम्नलिखित स्थितियों में गति के दूरी-समय ग्राफ़ की आकृति दर्शाइए-

(क) नियत चाल से गति करती कार

(ख) सड़क के किनारे खड़ी कोई कार

उत्तर:- (क) नियत चाल से गति करती कार का दूरी-समय ग्राफ समय

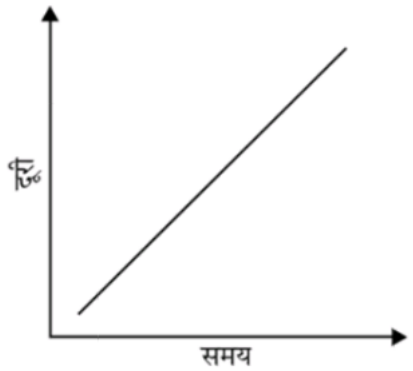

(ख) सड़क के किनारे खड़ी कोई कार का दूरी-समय ग्राफ समय समय

प्रश्न 8. निम्नलिखित में कौन-सा संबंध सही है?

(क) चाल = दूरी x समय

(ख) चाल = दूरी /समम

(ग) चाल = समय / दूरी

(घ) चाल = 1 / दूरी x समय)

उत्तर:- (ख) चाल = दूरी / समम

प्रश्न 9. चाल का मूल मात्रक है

(क) km/min

(ख) m/min

(ग) km/h

(घ) m/s

उत्तर:- (घ) m/s

प्रश्न 10. कोई कार 40km/h की चाल से 15 मिनट चलती है, इसके पश्चात् वह 60 km/h की चाल से 15 मिनट चलती है। कार द्वारा तय की गई कुल दूरी होगी –

(क) 100km

(ख) 25km

(ग) 15km

(घ) 10km

उत्तर:- स्तिथि I कार की चाल = 40km/hr समय = 15 min = 15/60 = 0.25 hr चाल = दूरी / समय तय की गई दूरी, d1 = चाल x समय = 40 x 0.25 = 10km स्तिथि II कार की चाल = 60 km/hr समय = 15 min = 15/60 = 0.25 hr चाल = दूरी/समय तय की गई दूरी, d2 = चाल x समय = 60 x 0.25 = 15km कुल दूरी = d1 + d2 = 10 + 15 = 25 km

प्रश्न 11. मान लीजिए चित्र 13.1 तथा चित्र 13.2 में दर्शाए गए फोटोग्राफ 10 सेकंड के अंतराल पर खींचे गए। यदि इन फोटोग्राफों में 100 मीटर की दूरी को 1 cm द्वारा दर्शाया गया है, तो तीव्रतम कार की चाल परिकलित कीजिए।

उत्तर:- नीली कार द्वारा एक सफेद पट्टी से दूसरी सफेद पट्टी तक तय की गई दूरी 1.4cm दर्शाया गया है कि, 1cm = 100m 1.4cm = 140m दोनों फोटोग्राफ के बीच खींचे जाने का समय = 10s चाल = दूरी / समय = 140/10 = 14m/s

प्रश्न 12. चित्र 13.15 में दो वाहनों, A तथा B की गति के दूरी समय ग्राफ़ दर्शाए गए हैं। इनमें से कौन सा वाहन अपेक्षाकृत तीव्र गति से चल रहा है

उत्तर:-

A तीव्र गति से चल रहा है क्योंकि, अगर याद किया जाए कि चाल = दूरी x समय जैसे जैसे दूरी बढ़ेगी, वैसे वैसे चाल बदेगी। बराबर समय में वाहन A, वाहन B से ज़्यादा दूरी तय करता है, जिससे ये साबित होता है कि वाहन A ki गति ज़्यादा है।

प्रश्न 13. निम्नलिखित दूरी-समय ग्राफ़ों में से कौन उस टूक की गति को दर्शाता है, जिसमें उसकी चाल नियत नहीं है?

उत्तर:- ग्राफ (ii) में दर्शाए गए ट्रक की गति नियत नहीं है।

If you want chapter wise NCERT Solutions for class 7 Science in Hindi then Link given below.

Chapter No	Chapter Name
1	पादपों में पोषण
2	प्राणियों में पोषण
3	रेशों से वस्त्र तक
4	ऊष्मा
5	अम्ल, क्षारक और लवण
6	भौतिक एवं रासायनिक परिवर्तन
7	मौसम, जलवायु तथा जलवायु के अनुरूप
8	पवन तूफ़ान और चक्रवात
9	मृदा
10	जीवों में श्वसन
11	जंतु एवं पादप में परिवहन
12	पादप में जनन
13	गति एवं समय
14	विद्युत धारा एवं इसके प्रभाव
15	प्रकाश
16	जल : एक बहुमूल्य संसाधन
17	वन हमारी जीवन रेखा
18	अपशिष्ट जल की कहानी

Please Share This Share this content

- Opens in a new window



- Opens in a new window

- Opens in a new window

- Opens in a new window

- Opens in a new window

- Opens in a new window

- Opens in a new window

- Opens in a new window

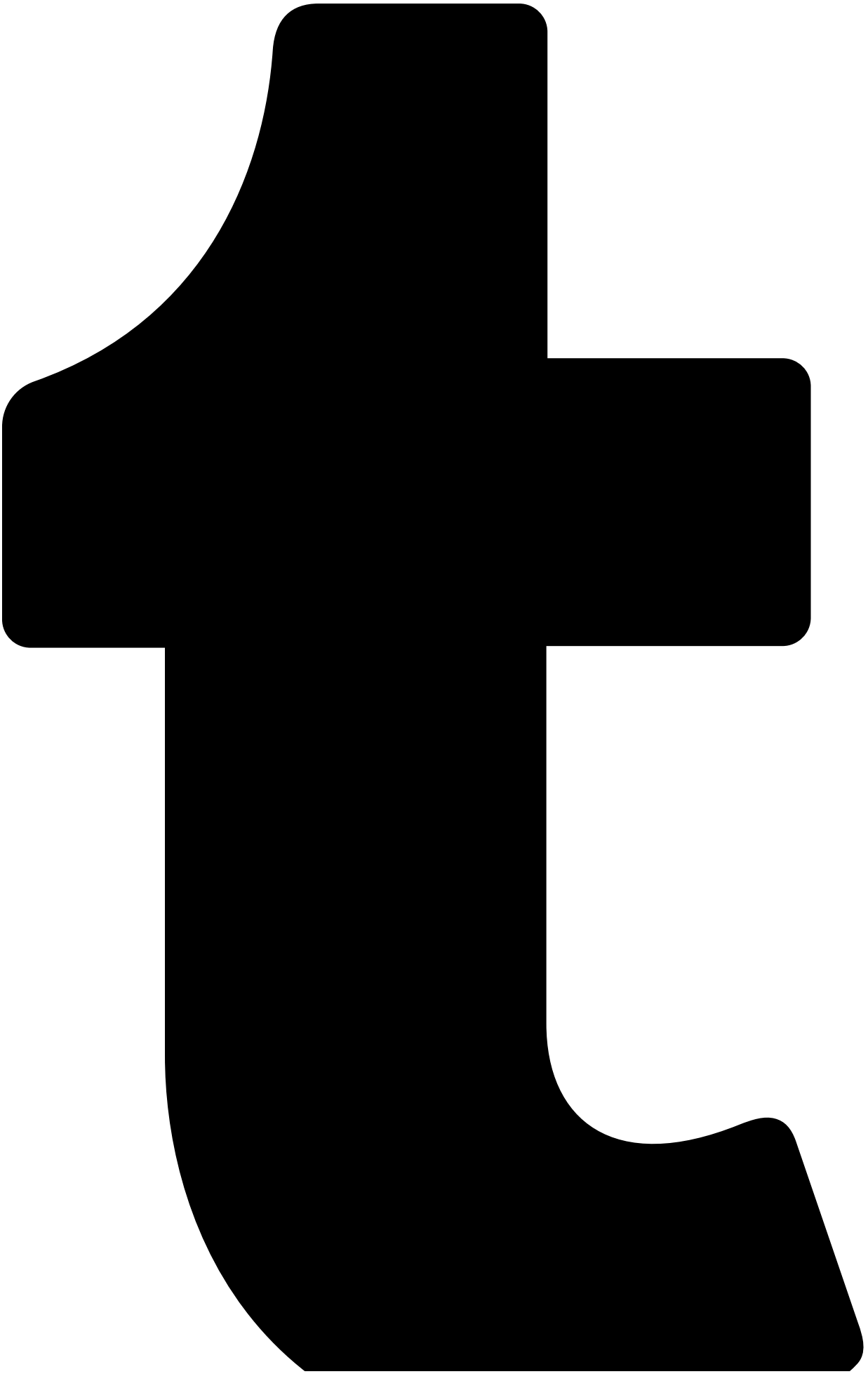

- Opens in a new window



- Opens in a new window

You Might Also Like

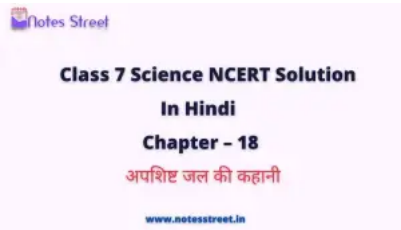

Class 7 Science NCERT Solution In Hindi Chapter – 18 अपशिष्ट जल की कहानी

April 28, 2022

Class 7 Science NCERT Solution In Hindi Chapter – 16 जल : एक बहुमूल्य संसाधन

April 28, 2022

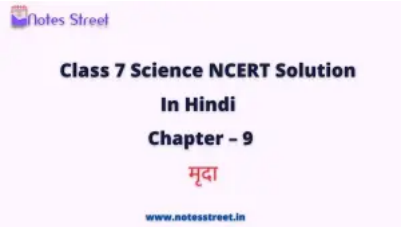

Class 7 Science NCERT Solution In Hindi Chapter – 9 मृदा

April 27, 2022