Skip to content

- Post category:Class 7 MCQs

Here we are providing Class 7 Social science Geography MCQs Chapter – 4 वायु because its very important for Class 7 students as we all know that every board exam question has MCQs so that students should practice these questions so that students can get good marks in board. **Class 7 Social science MCQs** Chapter – 4 वायु is an extremely important and its also a year in which students learn the fundamentals of concepts that help them lay a solid foundation for their higher education. Here we are providing in Class 7 Social science Geography MCQs Chapter – 4 वायु 100+ questions so that students practice more and more. If you want class wise Notes Then **Click Here**

Download PDF

Class 7 Social science Geography MCQs Chapter – 4 वायु

1. ओजोन गैस वायुमंडल की _____ परत में मौजूद होती है।

(a) समताप-मंडल

(b) बहिर्मंडल

(c) क्षोभमंडल

(d) मध्यमंडल

उत्तर – (a)

2. पृथ्वी पर अवरोधित आने वाली ऊर्जा _____ कहलाती है।

(a) ग्लोबल वार्मिंग

(b) ग्रीनहाउस

(c) जलवायु

(d) आतपन

उत्तर – (d)

3. वायुमण्डल की सबसे ऊपरी परत को _____ कहते हैं।

(a) मध्यमंडल

(b) समताप मंडल

(c) बहिर्मंडल

(d) वायुमंडल

उत्तर – (c)

4. निम्नलिखित में से कौन सी गैस ग्रीन हाउस गैस है?

(a) कार्बन मोनोऑक्साइड

(b) ऑक्सीजन

(c) कार्बन डाइऑक्साइड

(d) सल्फर डाइऑक्साइड

उत्तर – (c)

5. हवाई जहाज़ वायुमंडल की किस परत में उड़ते हैं?

(a) क्षोभमंडल

(b) मध्यमंडल

(c) समताप मंडल

(d) आयन मंडल

Ans:- (c)

6. निम्नलिखित में से कौन-सा/से युग्म सुमेलित है/हैं?

(i) वर्ष भर लगातार निश्चित दिशा में चलने वाली पवन – स्थानीय पवन

(ii) विभिन्न ऋतुओं में अपनी दिशा बदलने वाली पवन – मौसमी पवन

(iii) किसी छोटे क्षेत्र में वर्ष या दिन के किसी विशेष समय में चलने वाली पवन – स्थायी पवन

(a) केवल 1

(b) केवल 2

(c) (i) और (iii)

(d) (ii) और (iii)

Ans:- (b)

7. निम्नलिखित कथनों को ध्यानपूर्वक पढ़ियेः

(i) वायुदाब का क्षैतिज वितरण किसी स्थान पर उपस्थित वायु के ताप के द्वारा प्रभावित होता है।

(ii) निम्न दाब क्षेत्र बादल युक्त आकाश एवं नम मौसम के साथ जुड़ा होता है।

(iii) उच्च वायुदाब के कारण स्पष्ट एवं स्वच्छ आकाश होता है।

(iv) वायु सदैव उच्च दाब क्षेत्र से निम्न दाब क्षेत्र की ओर गमन करती है।

उपरोक्त में से कौन-से कथन सत्य हैं?

(a) केवल (i) और (ii)

(b) केवल 2, 3 और 4

(c) केवल 1, 3 और 4

(d) उपरोक्त सभी

Ans:- (d)

8. समताप मंडल से संबंधित निम्नलिखित कथनों में से कौन-से कथन सत्य हैं?

(i) क्षोभमंडल का ऊपर का भाग समताप मंडल कहलाता है।

(ii) यह परत बादलों एवं मौसम संबंधी घटनाओं से लगभग मुक्त होती है।

(iii) ओज़ोन गैस की परत समताप मंडल में ही होती है।

कूटः

(a) केवल (i) और (ii)

(b) केवल (ii) और (iii)

(c) केवल (i) और (iii)

(d) उपरोक्त सभी

Ans:- (d)

9. वायुमंडल की कौन सी परत वायुयानों को उड़ाने के लिए, सबसे अनुकूल परिस्थितियों को प्रदान करती है?

(a) क्षोभमंडल

(b) समतापमंडल

(c) मध्यमंडल

(d) बहिर्मंडल

उत्तर – (b)

10. निम्नलिखित कथनों में से कौन-सा/से कथन सत्य है/हैं?

(i) सूर्य से आने वाली वह ऊर्जा जिसे पृथ्वी रोक लेती है आतपन (सूर्यातप) कहलाती है।

(ii) सूर्यातप की मात्रा पृथ्वी पर हर जगह एक-समान रहती है।

(a) केवल 1

(b) केवल 2

(c) (i) और (ii) दोनों

(d) न तो 1 और न ही 2

Ans:- (a)

11. निम्नलिखित कथनों पर विचार कीजियेः

(i) वायुमंडल में सबसे अधिक नाइट्रोजन गैस पाई जाती है।

(ii) जब हम साँस लेते हैं तब ऑक्सीजन के साथ फेफड़ों में कुछ नाइट्रोजन ले जाते हैं।

(iii) पौधे अपने जीवन के लिये नाइट्रोजन की आवश्यकता को वायुमंडल से पूरा करते हैं।

उपरोक्त में से कौन-से कथन सत्य हैं?

(a) (i) और (ii)

(b) (ii) और (iii)

(c) (i) और (iii)

(d) (i), (ii) और (iii)

Ans:- (a)

12. वायुमंडल की _____ परत रेडियो प्रसारण में मदद करती है।

(a) बाह्य वायुमंडल

(b) समताप-मंडल

(c) क्षोभ मंडल

(d) बहिर्मंडल

उत्तर – (a)

13. अंतरिक्ष से प्रवेश करने पर उल्कापिंड वायुमंडल की _____ परत में जल जाते हैं।

(a) समताप-मंडल

(b) मध्यमंडल

(c) मध्यमण्डल

(d) बहिर्मंडल

उत्तर – (c)

14. मौसम से संबंधित सभी घटनाएँ जैसे- वर्षा, कुहरा एवं ओलावर्षण वायुमंडल की किस परत में होती हैं?

(a) क्षोभमंडल

(b) समताप मंडल

(c) मध्यमंडल

(d) बाह्य मंडल (आयन मंडल)

Ans:- (a)

15. वायु में सबसे अधिक मात्रा में पाई जाने वाली गैस _____ है।

(a) ऑक्सीजन

(b) नाइट्रोजन

(c) कार्बन डाइऑक्साइड

(d) आर्गन

उत्तर – (b)

16. अंतरिक्ष से आने वाले उल्का पिंड वायुमंडल में किस परत में प्रवेश करते ही जलने लगते हैं?

(a) क्षोभमंडल

(b) समताप मंडल

(c) मध्यमंडल

(d) बाह्य मंडल (आयन मंडल)

Ans:- (c)

17. निम्नलिखित कथनों पर विचार कीजियेः

(i) बाह्य वायुमंडल (आयन मंडल) में बढ़ती ऊँचाई के साथ तापमान अत्यधिक तीव्रता से बढ़ता है।

(ii) रेडियो संचार के लिये बाह्य वायुमंडल परत का ही उपयोग होता है।

उपरोक्त में से कौन-सा/से कथन सत्य है/हैं?

(a) केवल 1

(b) केवल 2

(c) (i) और (ii) दोनों

(d) न तो 1 और न ही 2

Ans:- (c)

18. मौसम की घटनाएं जैसे वर्षा, कुहरा और ओलावर्षण, वायुमंडल की _____ परत में होती है।

(a) क्षोभमंडल

(b) समतापमंडल

(c) मध्यमंडल

(d) बहिर्मंडल

उत्तर – (a)

19. पृथ्वी के तापमान में वृद्धि को _____ के रूप में जाना जाता है।

(a) ग्रीनहाउस प्रभाव

(b) भूमंडलीय तापन

(c) पारिस्थितिकी

(d) इनमें से कोई भी नहीं

उत्तर – (b)

20. वायुमंडल में पाई जाने वाली गैसों का प्रतिशत के आधार पर सही अवरोही (अधिक से कम) क्रम कौन-सा है?

(a) नाइट्रोजन > ऑक्सीजन > हीलियम > कार्बन डाईऑक्साइड

(b) नाइट्रोजन > ऑक्सीजन > कार्बन डाईऑक्साइड > आर्गन

(c) नाइट्रोजन > ऑक्सीजन > आर्गन > कार्बन डाईऑक्साइड

(d) नाइट्रोजन > ऑक्सीजन > मीथेन > कार्बन डाईऑक्साइड

Ans:- (c)

21. नीचे दिये गए कथन को ध्यानपूर्वक पढ़ियेः जैसे-जैसे वायु गर्म होती जाती है, वायु की जलवाष्प ग्रहण करने की क्षमता पर क्या प्रभाव पड़ता है?

(a) बढ़ती है

(b) घटती है

(c) कोई प्रभाव नहीं पड़ता है

(d) पहले बढ़ता है फिर घटता है

Ans:- (a)

Download PDF

Please Share This Share this content

- Opens in a new window



- Opens in a new window

- Opens in a new window

- Opens in a new window

- Opens in a new window

- Opens in a new window

- Opens in a new window

- Opens in a new window

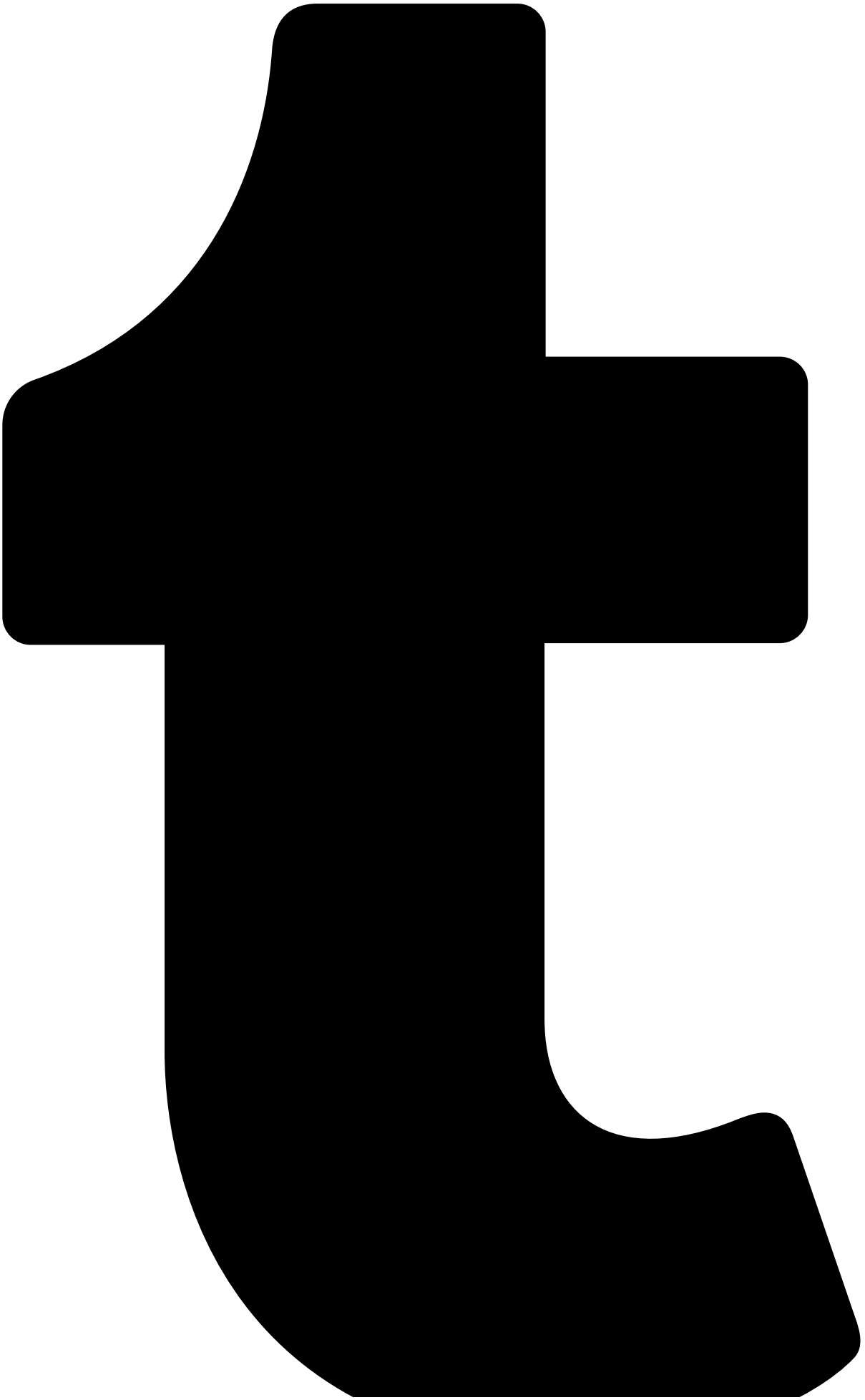

- Opens in a new window



- Opens in a new window

Read more articles

You Might Also Like

NCERT Class 7 Science MCQs Chapter – 1 Nutrition in Plants

July 3, 2022

Class 7 Social science Our Past MCQs Chapter – 6. Towns, Traders and Craft persons

February 22, 2023

Class 7 Social science Civics MCQs Chapter – 1 समानता

November 21, 2022