Skip to content

- Post category:Class 7 MCQs

Here we are providing Class 7 Social science Geography MCQs Chapter – 5 जल because its very important for Class 7 students as we all know that every board exam question has MCQs so that students should practice these questions so that students can get good marks in board. **Class 7 Social science MCQs** Chapter – 5 जल is an extremely important and its also a year in which students learn the fundamentals of concepts that help them lay a solid foundation for their higher education. Here we are providing in Class 7 Social science Geography MCQs Chapter – 5 जल 100+ questions so that students practice more and more. If you want class wise Notes Then **Click Here**

Download PDF

Class 7 Social science Geography MCQs Chapter – 5 जल

1 वह कौन सी प्रक्रिया है जिसके माध्यम से पानी लगातार अपना रूप बदलता रहता है?

(a) जल चक्र

(b) बारिश

(c) वर्षा

(d) वायुमंडल चक्र

उत्तर – (a)

2. निम्नलिखित में से कौन-कौन सी प्रक्रिया जल चक्र में सम्मिलित हैं?

(i) वाष्पीकरण

(ii) संघनन

(iii) वर्षण (a) केवल (i) और (ii)

(b) केवल (ii) और (iii)

(c) केवल (iii) और (i)

(d) उपरोक्त सभी

Ans:- (d)

3. किस दिन को विश्व जल दिवस के रूप में मनाया जाता है ?

(a) 25 मई

(b) 22 मार्च

(c) 5 जून

(d) 27 अप्रैल

उत्तर – (b)

4. दिन में दो बार नियत से महासागरीय जल का उठना और गिरना _____ कहलाता है।

(a) ज्वार-भाटा

(b) लहर

(c) महासागरीय धारा

(d) ये सभी

उत्तर – (a)

5. सूर्य, चंद्रमा और पृथ्वी की सतह द्वारा लगाए गए गुरुत्वाकर्षण खिंचाव के कारण _____उतप्पन होता है।

(a) लहर

(b) ज्वार-भाटा

(c) महासागरीय धाराएँ

(d) भूकंप

उत्तर – (b)

6. सुनामी शब्द की उत्पत्ति किस भाषा से हुई है?

(a) चीनी भाषा

(b) फ्रेंच भाषा

(c) जर्मन भाषा

(d) जापानी भाषा

Ans:- (d)

7. निम्नलिखित में से किसका सागरीय जल की लवणता में सर्वाधिक योगदान है?

(a) सोडियम क्लोराइड

(b) कैल्शियम क्लोराइड

(c) मैग्नीशियम क्लोराइड

(d) कैल्शियम सल्फेट

Ans:- (a)

8. निम्न में से कौन-सा एक छोटे घर के पौधों को रखने के लिए कृत्रिम अहाता है?

(a) जलजीवशाला

(b) थलशाला

(c) सूर्यातप

(d) इनमें से कोई नहीं।

उत्तर – (b)

9. वृहत् ज्वार किन दिनों में आते हैं?

(a) पूर्णिमा

(b) अमावस्या

(c) दोनों दिनों में

(d) इन दिनों के अलावा किसी भी दिन।

Ans:- (c)

10. महासागरों में होने वाली गतियों को आमतौर पर _____ भी कहा जा सकता है।

(a) लहर

(b) ज्वार-भाटा

(c) परिसंचरण

(d) जल चक्र

उत्तर – (c)

11. महासागर में ज्वार-भाटा की उत्पत्ति के प्रमुख कारण हैं-

(a) सूर्य का गुरुत्वाकर्षण बल

(b) चंद्रमा का गुरुत्वाकर्षण बल

(c) सूर्य एवं चंद्रमा दोनों के गुरुत्वाकर्षण बल के कारण

(d) समुद्री जलधाराएँ

Ans:- (c)

12 गर्म महासागरीय धाराएं _____ के निकट उत्पन्न होती है।

(a) ध्रुवों

(b) भूमध्य रेखा

(c) कर्क रेखा

(d) मकर रेखा

उत्तर – (b)

13. निम्नलिखित कथनों को ध्यानपूर्वक पढ़ियेः

(i) जब पृथ्वी का जल चंद्रमा के निकट होता है, उस समय चंद्रमा के गुरुत्वाकर्षण बल के कारण उच्च ज्वार आते हैं।

(ii) जब चंद्रमा एवं सूर्य पृथ्वी पर समकोण बनाते हैं तब निम्न ज्वार-भाटा आता है।

उपरोक्त में से कौन-सा/से कथन सत्य है/हैं?

(a) केवल (i)

(b) केवल (ii)

14. _____ ज्वार नौसंचालन में मदद करते है।

(a) उच्च

(b) लघु

(c) बहुत लघु

(d) ये सभी

उत्तर – (a)

15. निम्नलिखित में से कौन-कौन से लाभ उच्च ज्वार से होते हैं?

(i) उच्च ज्वार नौसंचालन में सहायक होते हैं।

(ii) उच्च ज्वार मछली पकड़ने में मदद करते हैं।

(iii) इनके उपयोग से विद्युत उत्पन्न की जा सकती है।

(a) केवल (i) और (ii)

(b) केवल (i) और (iii)

(c) केवल (ii) और (iii)

(d) उपरोक्त सभी

Ans:- (d)

16. वृहत् ज्वार आने की सही स्थिति क्या है?

(a) जब सूर्य, चंद्रमा एवं पृथ्वी तीनों एक सीध में होते हैं।

(b) जब सूर्य एवं चंद्रमा पृथ्वी पर समकोण बनाते हैं।

(c) जब महासागरीय सतह का तापमान उच्च होता है।

(d) जब बहुत तेज़ हवाएँ चलती हैं।

Ans:- (a)

17. बृहत् ज्वार और लघु ज्वार भाटा, दोनो ही _____ के प्रकार है

(a) लहर

(b) महासागरीय धाराएँ

(c) सुनामी

(d) ज्वार-भाटा

उत्तर – (d)

(c) (a) और (b) दोनों

(d) न तो (a) और न ही (b)

Ans:- (c)

18. लेब्राडोर और गल्फस्ट्रीम _____ के उदाहरण हैं।

(a) ज्वार-भाटा

(b) सुनामी

(c) महासागरीय धाराएँ

(d) लहर

उत्तर – (c)

19. महासागरीय धाराओं के संदर्भ में निम्नलिखित कथनों में से कौन-सा कथन असत्य है?

(a) गर्म महासागरीय धाराएँ भूमध्य रेखा के निकट उत्पन्न होती हैं एवं ध्रुवों की ओर प्रवाहित होती हैं।

(b) ठंडी धाराएँ ध्रुवों या उच्च अक्षांशों से उष्णकटिबंधीय या निम्न अक्षांशों की ओर प्रवाहित होती हैं।

(c) लेब्रोडोर महासागरीय जलधारा उष्ण जलधाराएँ होती हैं।

(d) महासागरीय धाराएँ आस-पास के क्षेत्र के तापमान को भी प्रभावित करती हैं।

Ans:- (c)

20. निम्नलिखित में से कौन-सा महासागरीय क्षेत्र विश्व भर में सर्वोत्तम मत्स्यन क्षेत्र माना जाता है?

(a) वह क्षेत्र जहाँ शीत जलधाराएँ बहती हैं।

(b) वह क्षेत्र जहाँ गर्म जलधाराएँ बहती हैं।

(c) वह क्षेत्र जहाँ गर्म एवं शीत जलधाराएँ मिलती हैं।

(d) समुद्र का वह क्षेत्र जो विषुवत रेखा के आस-पास है।

Ans:- (c)

Download PDF

Please Share This Share this content

- Opens in a new window



- Opens in a new window

- Opens in a new window

- Opens in a new window

- Opens in a new window

- Opens in a new window

- Opens in a new window

- Opens in a new window

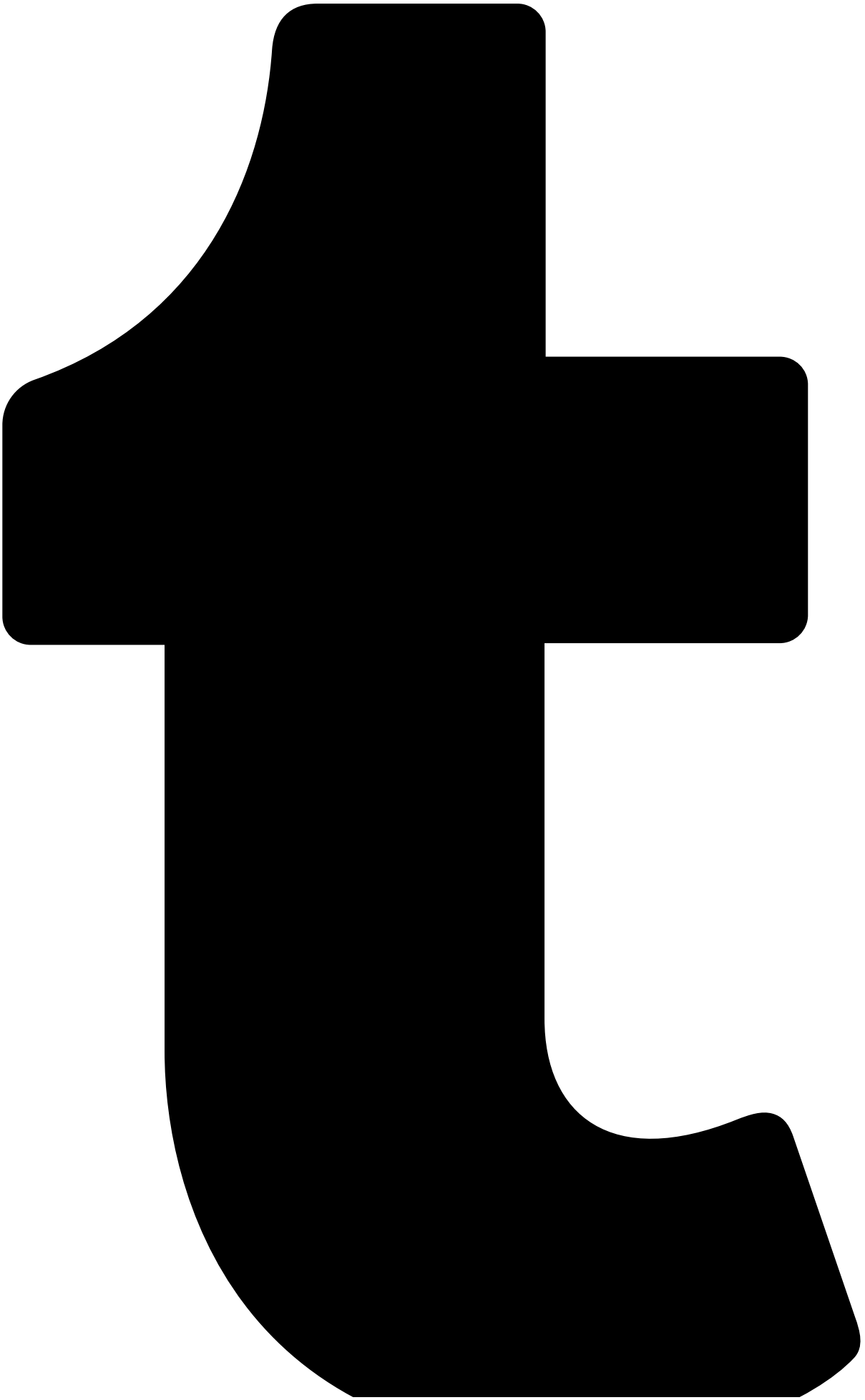

- Opens in a new window



- Opens in a new window

Read more articles

You Might Also Like

Class 7 Social science नागरिक शास्त्र MCQs Chapter – 5 औरतों ने बदली दुनिया

November 21, 2022

Class 7 Social Science Our Past MCQs Chapter – 8 Devotional Paths to the Divine

April 3, 2023

NCERT Class 7 Science MCQs Chapter – 7 Weather, Climate and Adaptations of Animals to Climate

July 5, 2022