Skip to content

- Post category:Class 7 MCQs

Here we are providing Class 7 Social science Geography MCQs Chapter – 6 प्राकृतिक वनस्पति एवं वन्य जीवन because its very important for Class 7 students as we all know that every board exam question has MCQs so that students should practice these questions so that students can get good marks in board. **Class 7 Social science MCQs** Chapter – 6 प्राकृतिक वनस्पति एवं वन्य जीवन is an extremely important and its also a year in which students learn the fundamentals of concepts that help them lay a solid foundation for their higher education. Here we are providing in Class 7 Social science Geography MCQs Chapter – 6 प्राकृतिक वनस्पति एवं वन्य जीवन 100+ questions so that students practice more and more. If you want class wise Notes Then **Click Here**

Download PDF

## Class 7 Social science Geography MCQs Chapter – 6 प्राकृतिक वनस्पति एवं वन्य जीवन

1. शीतोष्ण सदाबहार वन कहाँ पाए जाते हैं?

(a) दक्षिण चीन में

(b) दक्षिण-पूर्वी ब्राजील में

(c) दक्षिण-पूर्वी अमेरिका में

(d) इनमे से सभी।

**उत्तर – (d)**

2. उष्णकटिबंधीय पर्णपाती वनों के संदर्भ में नीचे दिये गए कथनों में से कौन-सा/से कथन सत्य है/हैं?

(i) उष्णकटिबंधीय पर्णपाती वन मानसूनी वन होते हैं।

(ii) इन वनों के वृक्ष जल संरक्षित करने के लिये शुष्क मौसम में अपनी पत्तियाँ झाड़ देते हैं।

(a) केवल (i)

(b) केवल (ii)

(c) (i) और (ii) दोनों

(d) न तो (i) और न ही (ii)

**Ans:- (c)**

3. बांज, चीड़, यूकेलिप्टस आदि वृक्ष _____ वनों में पाए जाते हैं।

(a) उष्णकटिबंधीय सदाबहार

(b) उष्णकटिबंधीय पर्णपाती

(c) शीतोष्ण सदाबहार

(d) शीतोष्ण पर्णपाती

**उत्तर – (c)**

4. उष्णकटिबंधीय सदाबहार वनों की विशेषताओं के संदर्भ में नीचे दिये गए कथनों पर विचार कीजिये:

(i) ये वन भूमध्य रेखा एवं उष्णकटिबंध के पास पाए जाते हैं।

(ii) इन वनों के क्षेत्र गर्म होते हैं एवं पूरे वर्ष यहाँ अत्यधिक वर्षा होती है।

(iii) इन वनों में दिन के समय भी सूर्य का प्रकाश वन के अंदर तक नहीं पहुँच पाता।

(iv) इन वनों के वृक्ष शुष्क मौसम में अपनी पत्तियाँ झाड़ देते हैं।

उपर्युक्त विशेषताओं में से कौन-सी विशेषताएँ सही हैं?

(i) और (ii)

(iii) और (iv)

(i), (ii) और (iii)

(i), (ii), (iii) और (iv)

**Ans:- (c)**

5. उष्णकटिबंधीय सदाबहार वन कहाँ पाए जाते हैं?

(a) भारत में

(b) दक्षिण अमेरिका में

(c) ब्राजील में

(d) मिस्र में

**उत्तर – (c)**

6. भूमध्यसागरीय वृक्षों में वाष्पोत्सर्जन को कम करने में क्या मदद करता है?

(a) मोटी छाल

(b) वृक्षों की मोटी पत्तियां

(c) दोनों (a) और (b)

(d) इनमें से कोई नहीं

**उत्तर – (c)**

7. निम्न में से कौन सा पेड़ उष्णकटिबंधीय सदाबहार वनों में नहीं पाया जाता है?

(a) शीशम

(b) आबनूस

(c) सागौन

(d) महोगनी

**उत्तर – (c)**

8. शंकुधारी वनों के संदर्भ में निम्नलिखित कथनों को ध्यान पूर्वक पढ़ियेः-

(i) शंकुधारी वन उत्तरी गोलार्द्ध में उच्च अक्षांशों (50°-70°) में पाए जाते हैं।

(ii) हिमालय में ये वन प्रचुर मात्रा में पाए जाते हैं।

(iii) शंकुधारी वनों के वृक्ष छोटे, कठोर एवं पर्णपाती प्रकार के के होते हैं।

(iv) शंकुधारी वनों को 'टैगा' भी कहा जाता है।

उपर्युक्त में से कौन-से कथन सही हैं?

(a) (i), (ii) और (iv)

(b) (ii), (iii) और (iv)

(c) (i) और (iii)

(d) उपरोक्त सभी

**Ans:- (a)**

9. उष्णकटिबंधीय पर्णपाती वन कहाँ पाए जाते हैं?

(a) उत्तरी ऑस्ट्रेलिया

(b) भारत

(c) मध्य अमेरिका

(d) इनमे से सभी

**उत्तर – (d)**

10. शीतोष्ण पर्णपाती वनों के संदर्भ में नीचे दिये गए कथनों में से कौन-से कथन सत्य हैं?

(i) उच्च अक्षांशों की ओर बढ़ने पर अधिक शीतोष्ण पर्णपाती वन मिलते हैं।

(ii) इस प्रकार के वन अधिकांशतः महाद्वीपों के पूर्वी एवं उत्तर-पूर्वी तटीय भागों में पाए जाते हैं।

(iii) इस प्रकार के वनों के वृक्ष अपनी पत्तियाँ शुष्क मौसम में झाड़ देते हैं।

(a) (i) और (ii)

(b) (ii) और (iII)

(c) (i) और (iii)

(d) उपरोक्त सभी

**Ans:- (d)**

11. उष्णकटिबंधीय सदाबहार वनों को _____ भी कहा जाता है।

(a) उष्णकटिबंधीय वर्षावन

(b) उष्णकटिबंधीय शुष्क वन

(c) उष्णकटिबंधीय पर्णपाती वन

(d) इनमें से कोई नहीं

**उत्तर – (a)**

12. निम्नलिखित घासस्थलों में कौन-से शीतोष्ण घासस्थल के प्रमुख उदाहरण है/हैं?

(i) पैंपास

(ii) प्रेयरी

(iii) वेल्ड

(iv) स्टेपी

(v) डाउन्स

कूटः

(a) (i), (ii) और (iii)

(b) (ii), (iii) और (iv)

(c) (i), (iii) और (iv)

(d) उपरोक्त सभी

**Ans:- (d)**

14. निम्नलिखित में से कौन सा पेड़ उष्णकटिबंधीय पर्णपाती वनों में नहीं पाया जाता है?

(a) बाघ

(b) बंदर

(c) हाथी

(d) बायसन

**उत्तर – (d)**

14. नीचे दिये गए कथन को ध्यानपूर्वक पढ़ियेः-

(i) ये वन मध्य अक्षांश के तटीय प्रदेशों में स्थित हैं।

(ii) ये वन सामान्यतः महाद्वीपों के पूर्वी किनारों पर पाए जाते हैं।

(iii) इन वनों में दृढ़ एवं मुलायम दोनों प्रकार के पेड़ पाए जाते हैं।

उपरोक्त कथन किस प्रकार के वनों की विशेषताओं को बताते हैं?

(a) उष्ण कटिबंधीय पर्णपाती वन

(b) शीतोष्ण सदाबहार वन

(c) शीतोष्ण पर्णपाती वन

(d) भूमध्यसागरीय वनस्पति

**Ans:- (b)**

15. किस प्रकार के वन प्रदेश को "विश्व का फलोद्यान" कहते हैं?

(a) उष्णकटिबंधीय सदाबहार वन

(b) शीतोष्ण पर्णपाती वन

(c) शीतोष्ण सदाबहार वन

(d) भूमध्यसागरीय वन

**Ans:- (d)**

16. इन क्षेत्रों में बहुत ही सीमित प्राकृतिक वनस्पति मिलती है। यहाँ केवल काई, लाइकेन एवं छोटी झाड़ियाँ पाई जाती हैं। ये अल्पकालिक ग्रीष्म ऋतु के दौरान विकसित होती हैं।

उपरोक्त विशेषताएँ किस क्षेत्र के संदर्भ में कही गई हैं?

(a) भूमध्यसागरीय क्षेत्र

(b) ध्रुवीय क्षेत्र

(c) उष्ण मरुस्थलीय क्षेत्र

(d) शीत मरुस्थलीय क्षेत्र

**Ans:- (b)**

17. निम्नलिखित में से कौन सा पेड़ उष्णकटिबंधीय पर्णपाती वनों में पाया जाता है?

(a) साल

(b) सागौन

(c) शीशम

(d) ये सभी

**उत्तर – (d)**

18. उष्णकटिबंधीय घास के संदर्भ में नीचे दिये गए कथनों पर विचार कीजियेः-

(i) उष्णकटिबंधीय घासस्थल सिर्फ भूमध्य रेखा के उत्तर में पाए जाते हैं।

(ii) उष्णकटिबंधीय घास आमतौर पर छोटी होती है।

(iii) अफ्रीका का सवाना घास स्थल, उष्णकटिबंधीय घासस्थल का उदाहरण है।

उपरोक्त में से कौन-सा/से कथन असत्य है/हैं?

(a) केवल (i)

(b) केवल (ii)

(c) केवल 3

(d) (i) और (ii)

**Ans:- (d)**

19. शीतोष्ण घासस्थल के संदर्भ में नीचे दिये गए कथनों पर विचार कीजियेः

(i) ये घासस्थल मध्यअक्षांशीय क्षेत्रों और महाद्वीपों के भीतरी भागों में पाए जाते हैं।

(ii) यहाँ की घास आमतौर पर छोटी एवं पौष्टिक होती है।

उपर्युक्त में से कौन-सा/से कथन सत्य है/हैं?

(a) केवल (i)

(b) केवल (ii)

(c) (i) और (ii) दोनों

(d) न (i) और न ही (ii)

**Ans:- (c)**

20. वनस्पति की वृद्धि किस पर निर्भर होती है ?

(a) तापमान पर

(b) वर्षा पर

(c) हवा पर

(d) दोनों (a) और (b)

**उत्तर – (d)**

21. महाद्वीपों के किस भाग में भूमध्यसागरीय वनस्पति पाई जाती है?

(i) पश्चिमी भाग

(ii) पूर्वी भाग

(iii) दक्षिण-पश्चिम भाग

(iv) उत्तरी भाग

कूटः

(a) (i) और (iii)

(b) 2 और 4

(c) (i), (iii) और (iv)

(d) (i), (ii) और (iv)

**Ans:- (a)**

22. नीचे दिये गए घासस्थलों पर विचार कीजियेः

(i) सवाना

(ii) वेल्ड

(iii) कंपोस

(iv) लानोस

उपरोक्त में से कौन-से उष्णकटिबंधीय घासस्थल के उदाहरण हैं?

(a) (i) और (ii)

(b) (ii), (iii) और (iv)

(c) (i), (iii) और (iv)

(d) उपरोक्त सभी

**Ans:- (d)**
Download PDF

**Please Share This Share this content**

- Opens in a new window



- Opens in a new window

- Opens in a new window

- Opens in a new window

- Opens in a new window

- Opens in a new window

- Opens in a new window

- Opens in a new window

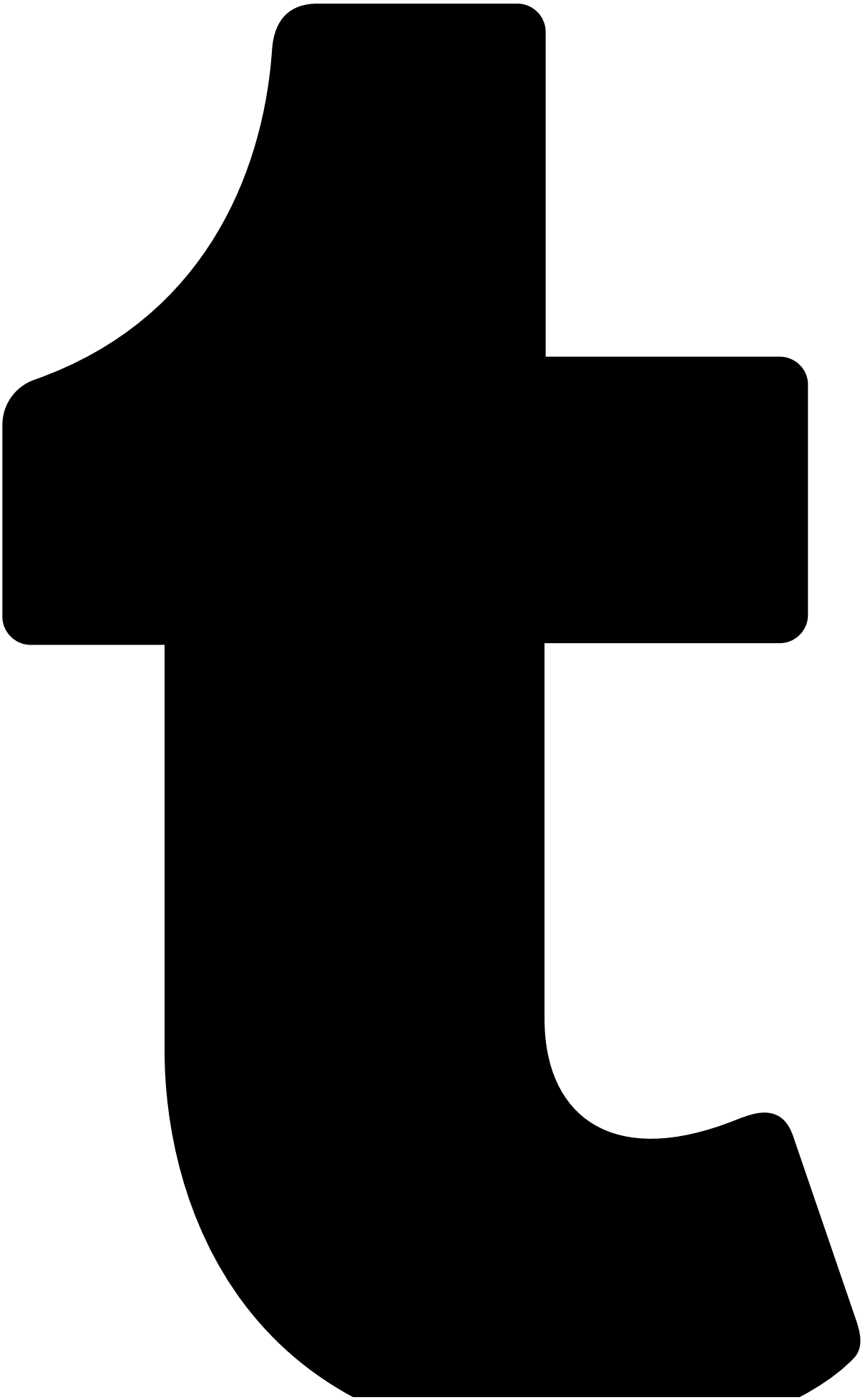

- Opens in a new window



- Opens in a new window

## Read more articles

### You Might Also Like

**Class 7 Math Important MCQs Chapter – 06 The Triangle and its Properties**

August 24, 2023

**Class 7 Social science Civics MCQs Chapter – 7 हमारे आस-पास के बाज़ार**

June 3, 2023

# Class 7 Social science History MCQs Chapter – 6 नगर, व्यापारी और शिल्पिजन

November 21, 2022