Skip to content

- Post category:Class 7 MCQs

Here we are providing Class 7 Social science Civics MCQs Chapter – 7 हमारे आस-पास के बाज़ार because its very important for Class 7 students as we all know that every board exam question has MCQs so that students should practice these questions so that students can get good marks in board. **Class 7 Social science MCQs** Chapter – 7 हमारे आस-पास के बाज़ार is an extremely important and its also a year in which students learn the fundamentals of concepts that help them lay a solid foundation for their higher education. Here we are providing in Class 7 Social science Civics MCQs Chapter – 7 हमारे आस-पास के बाज़ार 100+ questions so that students practice more and more. If you want class wise Notes Then **Click Here**

Download PDF

Class 7 Social science Civics MCQs Chapter – 7 हमारे आस-पास के बाज़ार

1. रूई किन पौधों से प्राप्त होती है ?

(a) कपास

(b) गेहूँ

(c) गेंदा

(d) गुलाब

Ans:- (a)

2. कपास के पौधे के किस भाग में रूई भरी होती है ?

(a) तने में

(b) जड़ में

(c) डोडे में

(d) पत्तों में

Ans:- (c)

3. शिल्पकारों का शोषण करके किसे लाभ होता है और उनकी वस्तुओं और सेवाओं के लिए कम कीमत चुकानी पड़ती है

(a) व्यवसायी

(b) बिचौलिये

(c) उपभोक्ता

(d) क्रेता

Ans:- (b)

4. साप्ताहिक बाजार का विक्रेता मॉल के विक्रेता की तुलना में _____ कमाता है

(a) कम

(b) अधिक

(c) बहुत बड़ा

(d) के बराबर

Ans:- (a)

5. कपास की खेती में किन पर अधिक निवेश करने की जरूरत पड़ती है ?

(a) उर्वरक

(b) कीटनाशक

(c) खाद

(d) (a) और (b) दोनों

Ans:- (c)

6. किसानों को व्यापारी पर किस प्रकार निर्भर रहना पड़ता है ?

(a) बच्चों की स्कूल फीस के लिए

(b) बीमारी में दवाई के लिए

(c) खेती में आवश्यक चीजों के लिए

(d) उपरोक्त सभी

Ans:- (d)

7. व्यापारी और बुनकरों के बीच की व्यवस्था एक उदाहरण है

(a) सिटिंग-आउट सिस्टम

(b) पुट-आउट सिस्टम

(c) पुट-आउट सिस्टम

(d) टेक-आउट सिस्टम

Ans:- (b)

8. साप्ताहिक बाजार में विक्रेता कौन होते हैं

(a) व्यवसायी

(b) बड़े विक्रेता

(c) छोटे व्यापारी

(d) उद्योगपति

Ans:- (c)

9. करघे पर सूत बुना जाता है

(a) साड़ी में

(b) बेल में

(c) कपड़ा में

(d) कपास में

Ans:- (c)

10. कम ब्याज दर के साथ जारी वाणिज्यिक पत्र इस प्रकार वाणिज्यिक पत्र को

(a) देय रेटिंग के रूप में वर्गीकृत किया गया है

(b) वाणिज्यिक रेटिंग

(c) खराब क्रेडिट रेटिंग

(d) बेहतर क्रेडिट रेटिंग

Ans:- (d)

11. गांठें कौन खरीदता है

(a) फुटकर विक्रेता

(b) किराना दुकान

(c) कताई मिल

(d) जिनिंग मिल

Ans:- (c)

12. सरकार राज्य में निःशुल्क स्कूल यूनिफार्म कार्यक्रम चलाती है। सरकार इस कार्यक्रम के लिए पावरलूम बुनकरों की सहकारी समितियों से कपड़ा खरीदती है।

(a) तमिलनाडु

(b) केरल

(c) आंध्र प्रदेश

(d) दिल्ली

Ans:- (a)

13. एक करघे का मूल्य अधिकाशत: कितना होता है ?

(a) 20,000 रूपए

(b) 5,000 रूपए

(c) 10,000 रूपए

(d) 50,000 रूपए

Ans:- (a)

14. 'पावरलूम' क्या है ?

(a) चरखा

(b) बिजली-चालित करघा

(c) सिलाई मशीन

(d) कम्पयूटर

Ans:- (b)

15. निम्नलिखित में से कौन सी वस्तु साप्ताहिक बाजार में नहीं मिलेगी

(a) ब्रांडेड कपड़े

(b) किराने का सामान

(c) नॉन-ब्रांडेड कपड़े

(d) सब्जियां

Ans:- (a)

16. _____ सूत कातता है

(a) व्यापारी

(b) ओटाई

(c) विक्रेता

(d) कताई

Ans:- (d)

17. _____ आइटम का संग्रह स्टेटस सिंबल बन गया है

(a) मुफ्त

(b) सस्ता

(c) ब्रांडेड

(d) प्राकृतिक

Ans:- (c)

18. बुनकरों और उनके परिवार के सदस्यों को कपड़ा बनाने के लिए एक दिन में कितने घंटे काम करना पड़ता है ?

(a) 10 घंटे

(b) 5 घंटे

(c) 7 घंटे

(d) 12 घंटे

Ans:- (d)

19. सहकारी संस्था द्वारा विक्रय का कार्य किए जाने पर किसकी भूमिका समाप्त हो जाती है ?

(a) व्यापारी की

(b) बुनकरों की

(c) किसानों की

(d) मजदूरों की

Ans:- (a)

20. इरोड बाजार स्थित है

(a) केरल में

(b) आंध्र प्रदेश में

(c) ओडिशा में

(d) तमिलनाडु में

Ans:- (d)

21. बाजार लोगों को कमाई के लिए क्या-क्या अवसर देता है ?

(a) काम करने का

(b) चीजों को बनाने का

(c) बनी हुई वस्तुएँ बेचने का

(d) उपरोक्त सभी

Ans:- (d)

22. किस प्रकार के लोग बाजार से सर्वाधिक कमाई करते है ?

(a) जिनके पास पैसा हो

(b) अपने स्वयं के कारखाने वाले

(c) जिनके पास खुद की जमीनें हो

(d) उपरोक्त सभी

Ans:- (d)

23. इरोड एक

(a) स्टेशनरी बाजार

(b) सब्जी बाजार

(c) फल बाजार

(d) कपड़ा बाजार है

Ans:- (d)

24. यदि बुनकर स्वयं सूत खरीदकर कपड़ा बेचते हैं, तो वे संभवतः अर्जित करेंगे

(a) तीन गुना अधिक

(b) पांच गुना अधिक

(c) चार गुना अधिक

(d) दो गुना अधिक

Ans:- (a)

25. सरकार किस प्रकार से सहकारी संस्थाओं की मदद करती है ?

(a) उचित मूल्य पर उनसे कपड़ा खरीदकर

(b) पैसे देकर

(c) उन्हें कपड़ा बेचकर

(d) कम मूल्य पर उनसे कपड़ा खरीदकर

Ans:- (a)

26. एक थोक विक्रेता से सामान खरीदता है

(a) उपभोक्ता

(b) खुदरा विक्रेता

(c) वितरक

(d) उपर्युक्त सभी

Ans:- (b)

27. इम्पेक्स गारमेंट फैक्ट्री में स्त्रियों को अधिकतर किन कामों के लिए रखा जाता है ?

(a) धागे काटने के लिए

(b) बटन टॉकने के लिए

(c) इस्तरी व पैकिंग करने के लिए

(d) उपरोक्त सभी

Ans:- (d)

28. कुरनूल कहाँ पर स्थित है ?

(a) आंध्र प्रदेश

(b) गुजरात

(c) असम

(d) पंजाब

Ans:- (a)

29. एक साप्ताहिक बाजार का दुकानदार होता है-

(a) बड़ा व्यापारी

(b) छोटा व्यापारी

(c) वितरक

(d) थोक बाज़ार

Ans:- (b)

30. स्वप्ना कहाँ की रहने वाली है ?

(a) कुरनूल

(b) बिहार

(c) गुजरात

(d) पंजाब

Ans:- (a)

31. आखिर उपभोक्ता को माल कौन बेचता है

(a) उत्पादक

(b) थोक विक्रेता

(c) फुटकर विक्रेता

(d) एजेंट

Ans:- (c)

32. स्वप्ना क्या करती है ?

(a) पढ़ती है

(b) बाजार में दुकान लगाती है

(c) कपास की खेती करती है

(d) बच्चों को पढ़ाती है

Ans:- (c)

33. एक उत्पादक से सामान खरीदता है-

(a) उपभोक्ता

(b) खुदरा विक्रेता

(c) थोक विक्रेता और वितरक

(d) उपरोक्त सभी

Ans:- (c)

34. इरोड कपड़ा कहाँ पर मिलता है ?

(a) तमिलनाडू

(b) गुजरात

(c) बिहार

(d) पंजाब

Ans:- (a)

35. एक फेरीवाला किस प्रकार दुकानदारी करता है?

(a) सप्ताहिक बाजार में दुकान लगाकर

(b) एक निश्चित दुकान में बैठकर

(c) शॉपिंग कंपलेक्स में बैठकर

(d) घूम घूमकर सामान बेचकर

Ans:- (d)

36. रुई के गोलों से बीज अलग करने की विधि क्या है ?

(a) जिनिंग मिव

(b) निटिग

(c) (a) और (b) दोनों

(d) इनमें से कोई भी नहीं

Ans:- (a)

37. विदेशों में माल भेजना क्या कहलाता है ?

(a) आयात

(b) निर्यात

(c) आयात-निर्यात

(d) उपरोक्त सभी

Ans:- (b)

38. निम्नलिखित में से कौन श्रृंखला बाजार में अन्य की तुलना में अधिक कीमत पर माल बेचता है

(a) उत्पादक

(b) फुटकर विक्रेता

(c) एजेंट

(d) थोक विक्रेता

Ans:- (b)

39. ऐसा बाज़ार जिसमें एक बाज़ार, दूसरे बाज़ार से एक श्रृंखला की तरह जुड़ा होता है, कहलाता है-

(a) थोक बाजार

(b) सप्ताहिक बाजार

(c) बाजारों की श्रृंखला

(d) शॉपिंग मॉल

Ans:- (c)

40. विदेशों में माल मंगवाना क्या कहलाता है ?

(a) निर्यात

(b) आयात

(c) आयात-निर्यात

(d) उपरोक्त सभी

Ans:- (b)

41. आमदन में से खर्चो को घटाकर बची राशी को क्या कहते हैं ?

(a) मुनाफा

(b) घाटा

(c) फजूल खर्ची

(d) आमदनी

Ans:- (a)

Download PDF

Please Share This Share this content

- Opens in a new window



- Opens in a new window

- Opens in a new window

- Opens in a new window

- Opens in a new window

- Opens in a new window

- Opens in a new window

- Opens in a new window

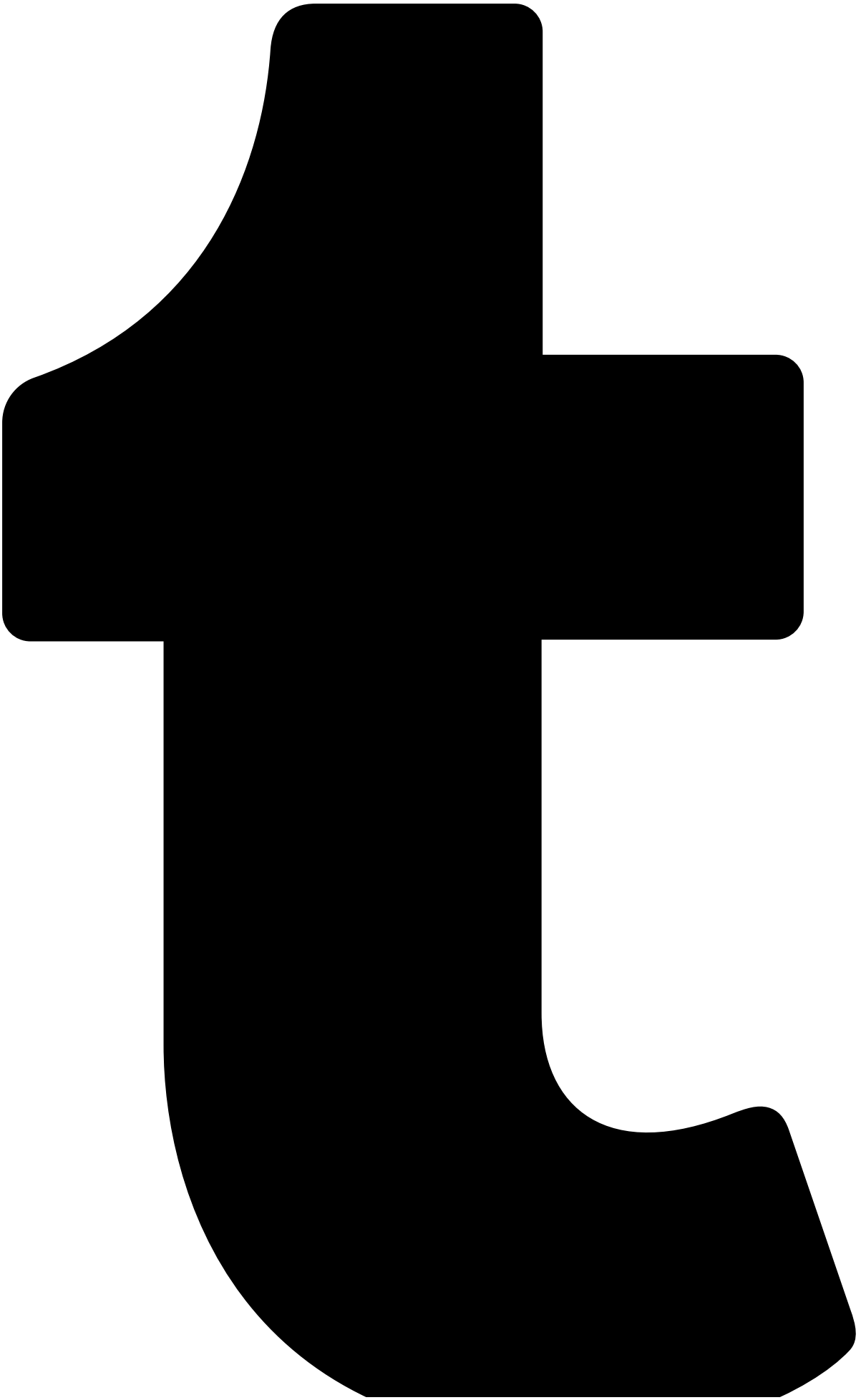

- Opens in a new window



- Opens in a new window

Read more articles

You Might Also Like

Class 7 Social science History MCQs Chapter – 1 हज़ार वर्षों के दौरान हुए परिवर्तनों की पड़ताल

November 21, 2022

Class 7 Social science Our Past MCQs Chapter – 3. The Delhi Sultans

February 22, 2023

Class 7 Social science Civics MCQs Chapter – 9 समानता के लिए संघर्ष

June 3, 2023