Skip to content

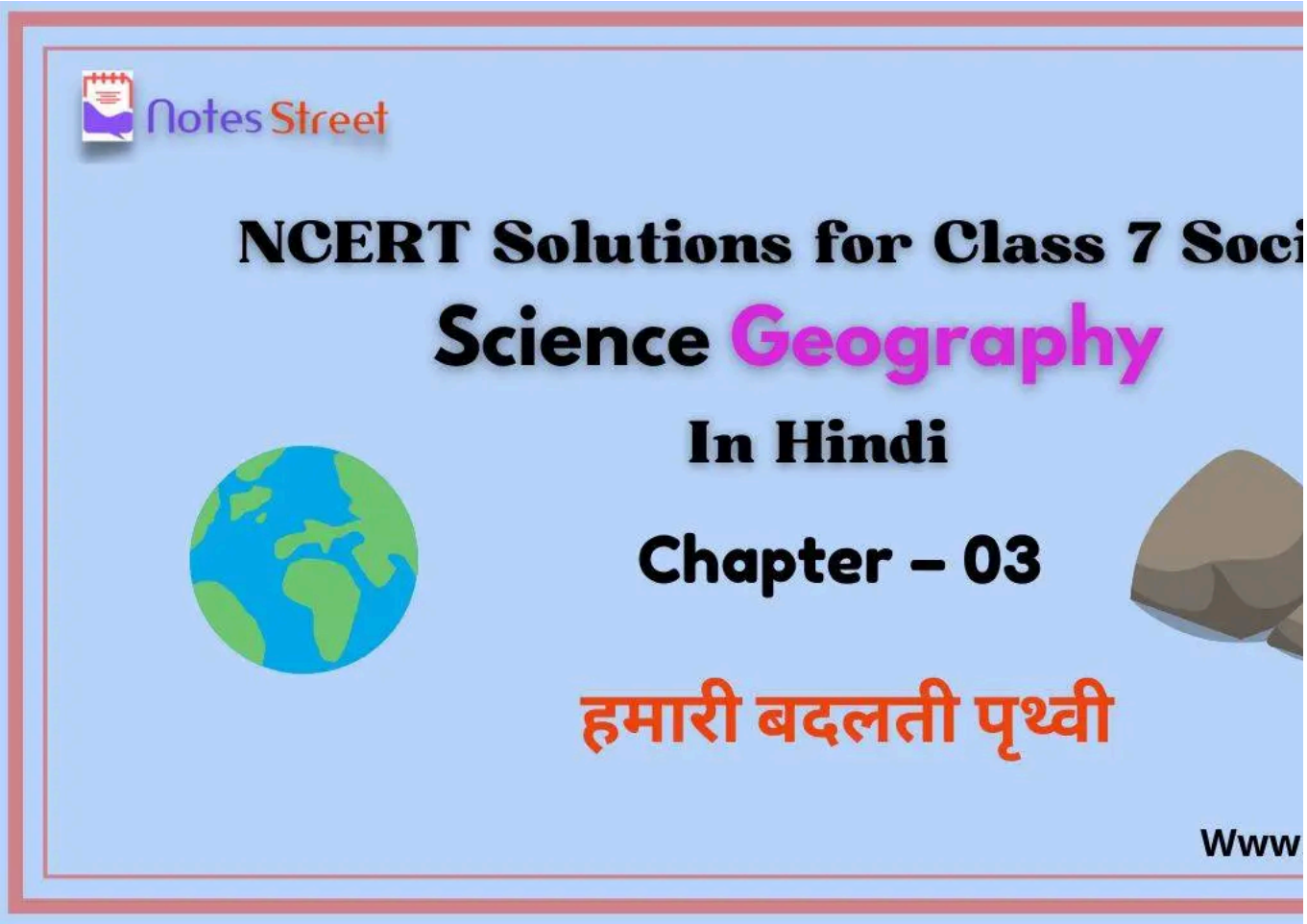

NCERT Solutions for Class 7 Social Science Geography Chapter – 3 हमारी बदलती पृथ्वी

- Post category:NCERT Solutions for Class 7

Here we are providing **NCERT Solutions for Class 7** Social Science Geography Chapter – 3 हमारी बदलती पृथ्वी Solutions are important for Class 7 students as it is an extremely important class and is also a year in which students learn the fundamentals of concepts that help them lay a solid foundation for their higher education. The NCERT solutions provide extensive material to enable students to form a good foundation with the foundations of the NCERT Class 7 Geography textbook. Class 7 Geography NCERT Solutions for Class 7 Social Science Geography Chapter – 3 हमारी बदलती पृथ्वी Improve your subject knowledge and solve multiple exam questions with ease by practicing regularly at NCERT Solutions. If You want class wise notes then **click here**

NCERT Solutions for Class 7 Social Science Geography Chapter – 3 हमारी बदलती पृथ्वी

अध्याय के मुख्य अंश

■ स्थलमंडल – भूपर्पटी तथा ऊपरी मेंटल से मिलकर बनने वाली परत को स्थलमंडल कहते हैं।

■ पृथ्वी की शक्तियाँ – पृथ्वी के धरातल पर तथा इसके भीतर दो अलग-अलग शक्तियाँ काम करती हैं- आंतरिक शक्तियाँ तथा बाह्य शक्तियाँ। आंतरिक शक्तियाँ पृथ्वी के आवरण को ऊँचा-नीचा करती हैं जबकि बाह्य शक्तियाँ असमतल तल को समतल करने की क्रिया करती हैं।

■ ज्वालामुखी – भूमि की सतह पर एक छिद्र या बड़ा सुराख ज्वालामुखी कहलाता है जिसमें से पिघला हुआ पदार्थ बाहर निकलता है, जिसे लावा कहते हैं।

■भूकंप – भूकंप पृथ्वी के भीतरी भाग में हलचल होने के कारण धरातल में कंपन उत्पन्न होने को कहते हैं।

■ अपरदन- भूमि पर जल, पवन तथा हिम जैसे घटकों के द्वारा होने वाले शैल क्षय को अपरदन कहते हैं।

■ बाढ़कृत मैदान – बाढ़ के समय नदी का पानी नदी के आस-पास की भूमि में इकट्ठा हो जाता है। इस पानी के वाष्पीकरण के पश्चात् वहाँ विस्तृत मैदान बन जाते हैं, जिसे बाढ़कृत मैदान कहते हैं।

■ जल प्रपात – जल प्रपात वह स्थलरूप है जो नदी के मार्ग में कठोर शैलों के आने से बनते हैं। नदी का जल इन कठोर शैलों को नहीं काट पाता है परंतु नीचे की कम कठोर शैलें आसानी से कट जाती हैं। ऐसे स्थान पर नदी का जल ऊँचाई से नीचे गिरता है।

■ नदी विसर्प – नदी के मार्ग में कठोर बाधाएँ आ जाने से नदी का जल घुमावदार मार्ग बना लेता है, जिससे मोड़ आ जाते हैं। इन मोड़ों को नदी विसर्प कहते हैं।

■ स्टैक – लगातार अपरदन से समुद्र तटीय मेहराब की छत टूट जाने पर दीवार जैसी आकृति शेष रहती है, जिसे स्टैक कहते हैं।

■ हिमोढ़ – हिमोड़ वह निक्षेप है जो हिमनदी की बर्फ़ पिघलने पर हिमनदी के साथ एक स्थान पर निक्षेपित (जमा) हो जाता है।

■ बालू के टिब्बे – टीला जो पवन के वेग से रेत और मिट्टी इकट्ठा होने पर बनता है, उसे बालू का डिब्बा कहते हैं।

प्रश्न 1. निम्नलिखित प्रश्नों के उत्तर दीजिए-

(क) प्लेटें क्यों घूमती हैं ?

उत्तर- पृथ्वी के अंदर पिघला हुआ मैग्मा होता है। इसमें गति होती रहती है। इसी गति के कारण ही प्लेटें सदा धीमी गति से चारों तरफ घूमती रहती हैं। ये वर्ष में केवल कुछ किलोमीटर ही घूमती हैं।

(ख) बहिर्जनित एवं अंतर्जनित बल क्या है ?

उत्तर – बहिर्जनित बल – वह बल जो पृथ्वी की सतह पर पैदा होता है, उसे बहिर्जनित (एक्सोजेनिक फोर्स) बल कहते हैं। अंतर्जनित बल – जो बल धरती के आंतरिक भाग में घटित होता है, उसे अंतर्जनित बल (एंडोजेनिक फोर्स) कहते हैं। ये बल भी आकस्मिक गति उत्पन्न करते हैं, तो कभी धीमी गति ।

(ग) अपरदन क्या है ?

उत्तर – धरातल पर जल, पवन तथा हिम जैसे घटक चट्टानों को तोड़ते-फोड़ते रहते हैं। चट्टानों के इस क्षय को अपरदन कहते हैं।

(घ) बाढ़कृत मैदान का निर्माण कैसे होता है ?

उत्तर – नदी कभी-कभी अपने तटों के बाहर होकर बहने लगती है। इससे निकटवर्ती क्षेत्रों में बाढ़ के कारण नदी के समोप वाले क्षेत्रों में बारीक मिट्टी तथा अन्य पदार्थ निक्षेपित हो जाते हैं। इन्हें अवसाद कहते हैं। इसी अवसाद से बाढ़कृत मैदान का निर्माण होता है। ऐसे मैदान समतल और उपजाऊ होते हैं।

(ङ) बालू टिब्बा क्या है ?

उत्तर – रेगिस्तान (मरुस्थल) में पवन, अपने साथ एक

स्थान से दूसरे स्थान पर बहुत-सी रेत उड़ा कर ले जाती है। पवन की गति कम होने पर यह रेत किसी स्थान पर जमा हो जाती है और एक छोटी सी पहाड़ी बना देती है। इस पहाड़ी को बालू टिब्बा कहते हैं।

(च) समुद्री पुलिन का निर्माण कैसे होता है ?

उत्तर – समुद्री तरंगें किनारों पर अवसाद जमा करती रहती हैं। यही अवसाद समुद्री पुलिन का निर्माण करते हैं।

(छ) चापझील क्या है ?

उत्तर- – नदी विसर्पों के किनारों पर लगातार अपरदन तथा निक्षेपण करती रहती है । इस क्रिया से विसर्प लूप के सिरे समीप आते जाते हैं। कुछ समय बाद विसर्प लूप नदी से अलग हो जाते हैं और अलग झील बना लेते हैं। इस झील को चापझील कहते हैं ।

प्रश्न 2. सही उत्तर चिह्नित (✓) कीजिए ।

1. इनमें से कौन-सी समुद्री तरंग की विशेषता नहीं है ?

(क) शैल

(ख) किनारा

(ग) समुद्री गुफा।

2. हिमनद की निक्षेपण विशेषता है-

(क) बाढ़कृत मैदान

(ख) पुलिन

(ग) हिमोढ़

3. पृथ्वी की आकस्मिक गतियों के कारण कौन-सी घटना होती है ?

(क) ज्वालामुखी

(ख) वलन

(ग) बाढ़कृत मैदान

4. छत्रक शैलें पाई जाती हैं-

(क) रेगिस्तान में

(ख) नदी घाटी में

(ग) हिमनद में।

5. चापझील यहाँ पाई जाती है-

(क) हिमनद

(ख) नदी घाटी

(ग) रेगिस्तान |

उत्तर –

(1) शैल

(2) हिमोढ़

(3) ज्वालामुखी

(4) रेगिस्तान में

(5) नदी घाटी

प्रश्न 3. निम्नलिखित स्तंभों को मिलाकर सही जोड़े बनाइए ।

(क) हिमनद	(i) समुद्री तट
(ख) विसर्प	(ii) बर्फ की नदी
(ग) पुलिन	(iii) नदियाँ
(घ) बालू टिब्बा	(iv) पृथ्वी का कंपन
(ङ) जलप्रपात	(v) कठोर संस्तर शैल
(च) भूकंप	(vi) रेगिस्तान

उत्तर-

(क) हिमनद	(i) बर्फ की नदी
(ख) विसर्प	(ii) नदियाँ
(ग) पुलिन	(iii) समुद्री तट
(घ) बालू टिब्बा	(iv)रेगिस्तान
(ङ) जलप्रपात	(v) कठोर संस्तर शैल
(च) भूकंप	(vi) पृथ्वी का कंपन

प्रश्न 4. कारण बताइए-

(क) कुछ शैल छत्रक के आकार में होते हैं।

उत्तर- रेगिस्तान में पवन शैल के ऊपरी भाग की अपेक्षा निचले भाग को आसानी से काट देती है। इससे शैल का आधार छोटा तथा शीर्ष बड़ा हो जाता है। ऐसी शैलें छत्रक के आकार की होती हैं।

(ख) बाढ़कृत मैदान बहुत उपजाऊ होते हैं।

उत्तर – नदी तटों के समीप बाढ़ के कारण बारीक मिट्टी तथा अन्य पदार्थों को फैला देती है। इस प्रकार समतल उपजाऊ बाढ़कृत मैदान का निर्माण होता है।

(ग) समुद्री गुफा, स्टैक के रूप में परिवर्तित हो जाती है।

उत्तर- समुद्री गुफाओं के बड़े होते जाने पर इनमें केवल छत ही बचती है, जिससे तटीय मेहराब बनते हैं। लगातार अपरदन से छत टूट भी जाती है तथा केवल दीवारें शेष रह जाती हैं। दीवार जैसी ये आकृतियाँ स्टैक कहलाती हैं। इस प्रकार समुद्री गुफ़ा स्टैक के रूप में परिवर्तित हो जाती है।

(घ) भूकंप के दौरान इमारतें गिरती हैं।

उत्तर – स्थलमंडलीय प्लेटों के गति करने पर पृथ्वी की सतह पर कंपन पैदा होती है। यह कंपन पृथ्वी के चारों ओर गति कर सकती है। इस कंपन को भूकंप कहते हैं। भूकंप आने पर पृथ्वी की सतह पर बनी इमारतों के आधार हिल जाते हैं और वे गिर जाती हैं।

प्रश्न 5. क्रियाकलाप नीचे दिए गए चित्रों को देखें। ये नदी द्वारा निर्मित स्थलाकृतियाँ हैं। इन्हें पहचानिए एवं बताइए कि ये नदी के अपरदन अथवा निक्षेपण अथवा दोनों का परिणाम है।

चित्र	**स्थलाकृति**	**प्रकार (अपरदन अथवा निक्षेपण अथवा दोनों)**
	जल प्रपात	अपरदन
	विसर्प	अपरदन तथा निक्षेपण
	बाढ़कृत मैदान	निक्षेपण

प्रश्न 6. आओ खेलें-

(i) नीचे दी गई वर्ग पहेली को हल करें:

नोट: वर्ग पहेली के उत्तर अंग्रेज़ी के शब्दों में हैं।

बाएँ से दाएँ	बाएँ से दाएँ
2. नदी के लूप जैसा मोड़ 4. जल का ठोस रूप 7. हिम का चलना 9. जल का ऊँचाई से गिरना 11. समुद्री तरंग द्वारा दुर्बल शैल मेंबनाई गई प्राकृतिक गुफा 12. नदी के तटबंध 13. समुद्री जल का विशाल भंडार 14. शुष्क टिब्बे जहाँ बालू के टिब्बे पाए जाते हैं । 15. बालू की छोटी पहाड़ी जो पवन के कार्य से बनती है 16. बाढ़ के समय नदी निक्षेपण 'द्वारा निर्मित समतल मैदान।	1. जल की सतह पर पवन द्वारा जल का उठना एवं गिरना 2. चैनल में जल का बहाव 5. समुद्री तट पर तीव्र ऊर्ध्वाधर शैल 6. हिमनद द्वारा लाए गए पदार्थ 8. नदी विसर्प द्वारा निर्मित चापाकार झील 10. पवन द्वारा निक्षेपित महीन बालू 13. समुद्र तट के निकट एकल दीवार जैसी शैल आकृति 14. नदी के मुहाने पर अवसाद निक्षेपण से निर्मित आकृति

Please Share This Share this content

- Opens in a new window



- Opens in a new window

- Opens in a new window

- Opens in a new window

- Opens in a new window

- Opens in a new window

- Opens in a new window

- Opens in a new window

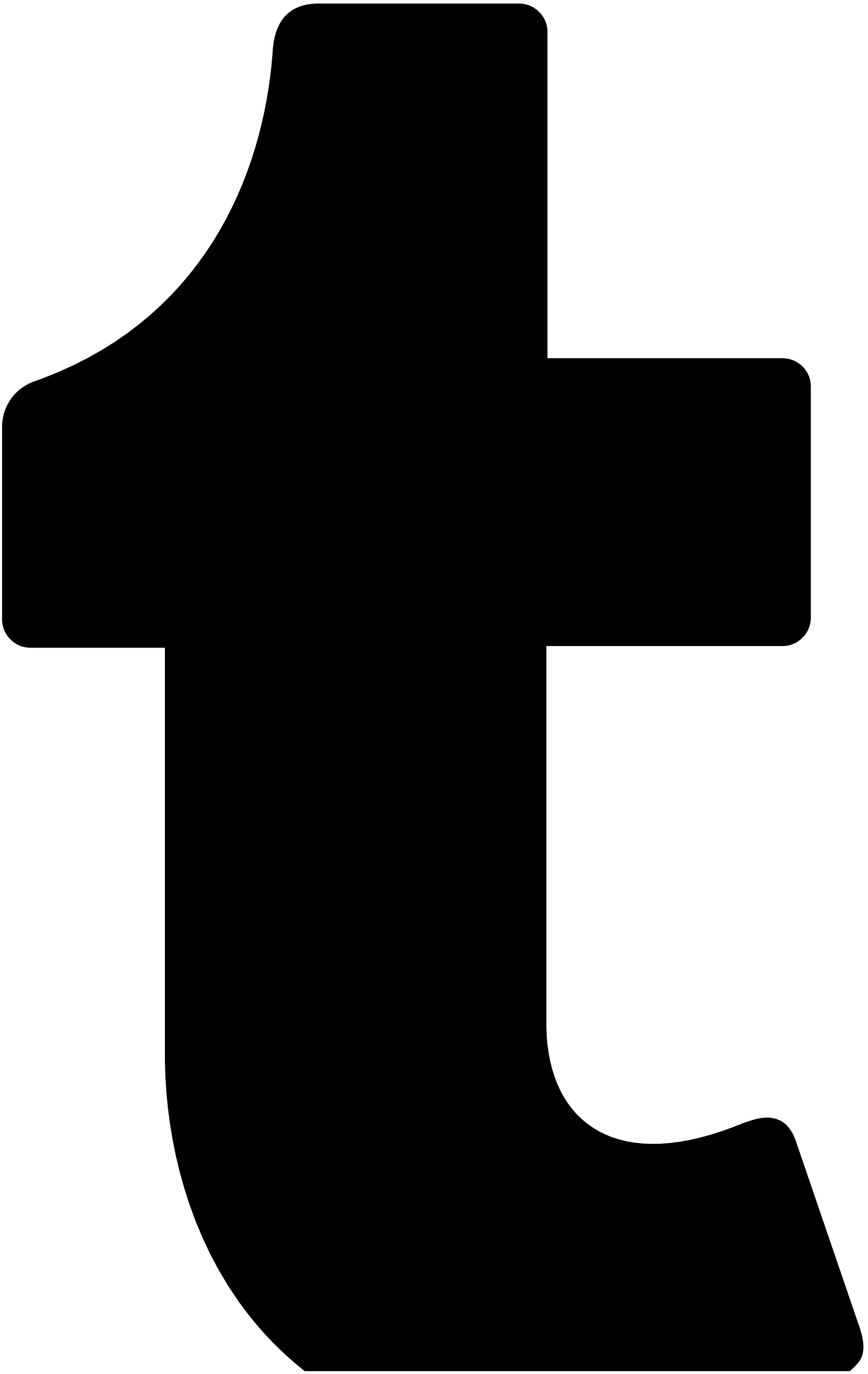

- Opens in a new window



- Opens in a new window

You Might Also Like

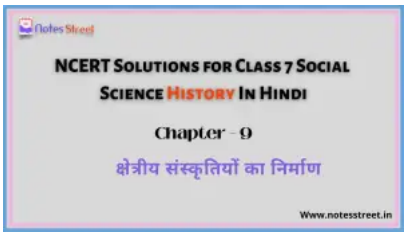

NCERT Solutions for Class 7 Social Science History Chapter – 9 क्षेत्रीय संस्कृतियों का निर्माण

June 13, 2022

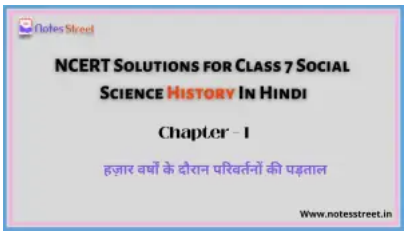

[NCERT Solutions for Class 7 Social Science History Chapter – 1 हज़ार वर्षों के दौरान परिवर्तनों की पड़ताल]

June 12, 2022

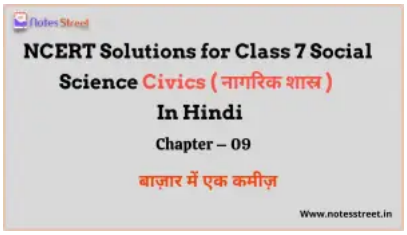

[NCERT Solutions for Class 7 Social Science Civics Chapter – 9 बाज़ार में एक कमीज़]

June 14, 2022