Skip to content

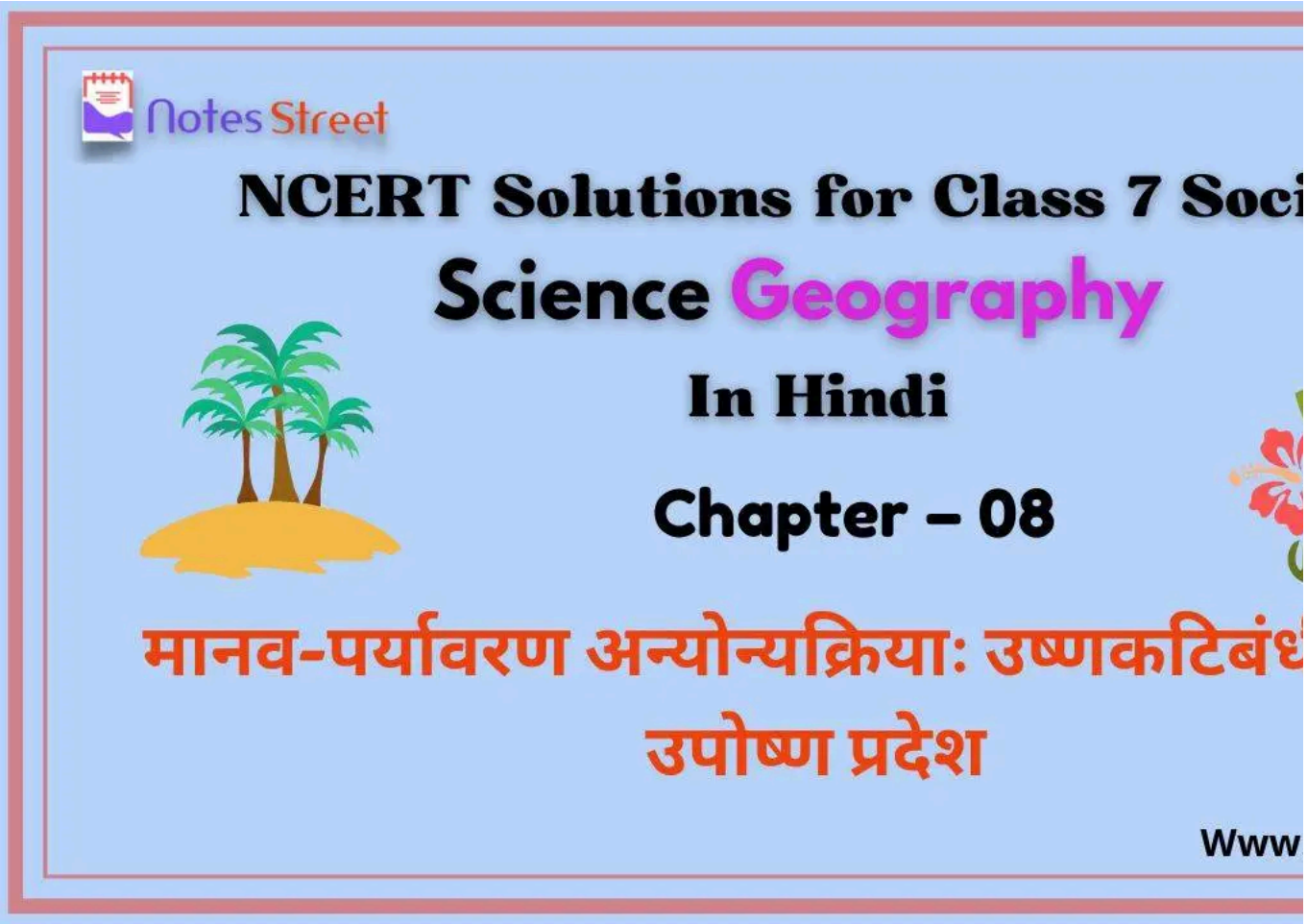

NCERT Solutions for Class 7 Social Science Geography Chapter – 8 मानव-पर्यावरण अन्योन्यक्रिया: उष्णकटिबंधीय एवं उपोष्ण प्रदेश

- Post category:NCERT Solutions for Class 7

Here we are providing **NCERT Solutions for Class 7** Social Science Geography Chapter – 8 मानव-पर्यावरण अन्योन्यक्रिया: उष्णकटिबंधीय एवं उपोष्ण प्रदेश Solutions are important for Class 7 students as it is an extremely important class and is also a year in which students learn the fundamentals of concepts that help them lay a solid foundation for their higher education. The NCERT solutions provide extensive material to enable students to form a good foundation with the foundations of the NCERT Class 7 Geography textbook. Class 7 Geography NCERT Solutions for Class 7 Social Science Geography Chapter – 8 मानव-पर्यावरण अन्योन्यक्रिया: उष्णकटिबंधीय एवं उपोष्ण प्रदेश Improve your subject knowledge and solve multiple exam questions with ease by practicing regularly at NCERT Solutions. If You want class wise notes then **click here**

NCERT Solution for Class 7 Social Science Geography Chapter – 8 मानव-पर्यावरण अन्योन्यक्रिया: उष्णकटिबंधीय एवं उपोष्ण प्रदेश

अध्याय के मुख्य अंश

■ मुहाना – मुहाना उस स्थान को कहते हैं, जिस स्थान पर कोई नदी किसी अन्य जलराशि में मिलती है।

■ सहायक नदियाँ – मुख्य नदी से मिलने वाली छोटी-छोटी नदियों को सहायक नदियाँ कहते हैं।

■ बेसिन अथवा जलग्रहण क्षेत्र – मुख्य नदी तथा उसकी सहायक नदियाँ जिस क्षेत्र के पानी को बहाकर ले जाती हैं, उसे उस नदी का बेसिन अथवा जलग्रहण क्षेत्र कहा जाता है।

■ अमेज़न बेसिन – विश्व का सबसे बड़ा नदी बेसिन अमेज़न बेसिन है।

■ ब्रोमिलायड – अपनी पत्तियों में जल को संचित रखने वाले पौधे को ब्रोमिलायड कहते हैं।

■ वर्षा वन—ये वन इतने ऊँचे तथा घने होते हैं कि इनमें से होकर सूर्य का प्रकाश भी धरातल पर नहीं पहुँच पाता।

■ वेदिकाएँ – तीव्र ढलानों पर समतल सतह बनाकर कृषि करने के लिए किया जाने वाला निर्माण वेदिका कहलाता है।

अभ्यास के प्रश्न (Textual Questions)

प्रश्न 1. निम्न प्रश्नों के उत्तर दीजिए-

(क) उस महाद्वीप का नाम बताएँ जो अमेजन बेसिन में स्थित है ?

उत्तर- दक्षिण अमेरिका

(ख) अमेज़न बेसिन के लोग कौन-सी फसल उपजाते हैं ?

उत्तर- अमेज़न बेसिन के लोग टेपियोका, अनानास, शकरकंद, कसावा आदि फसलें उगाते हैं। यहाँ कॉफी, मक्का, कोको आदि नकदी फसलें भी उगाई जाती हैं।

(ग) अमेज़न के वर्षा वन में कौन-से पक्षी पाए जाते हैं ?

उत्तर- अमेज़न के वर्षा वन में टूकन, गुंजन पक्षी, रंगीन पक्षति (plumage) वाले पक्षी.तथा विभिन्न प्रकार के बड़ी चोंच वाले पक्षी पाए जाते हैं। ये पक्षी भारत में पाए जाने वाले पक्षियों से भिन्न होते हैं।

(घ) गंगा नदी के तट पर कौन-से प्रमुख शहर स्थित हैं ?

उत्तर – गंगा नदी के तट पर हरिद्वार, कानपुर, लखनऊ, वाराणसी, इलाहाबाद, पटना तथा कोलकाता जैसे बड़े-बड़े नगर स्थित हैं। वाराणसी शहर

(च) एक सींग वाले गैंडे कहाँ पाये जाते हैं ?

उत्तर – एक सींग वाला गैंडा ब्रह्मपुत्र के मैदानों में पाया जाता है।

प्रश्न 2. सही (✓) उत्तर चिह्नित कीजिए-

(क) टूकन क्या हैं ?

(i) पक्षी

(ii) पशु

(iii) फसलें

(ख) मैनियाँक कहाँ का प्रमुख भोजन है ?

(i) गंगा बेसिन

(ii) अफ्रीका

(iii) अमेजन ।

(ग) कोलकाता किस नदी के तट पर स्थित है ?

(i) ऑरेंज

(ii) हुगली

(iii) भागीरथी ।

(घ) देवदार एवं फ़र किसके प्रकार हैं ?

(i) शंकुधारी वृक्ष

(ii) पर्णपाती वृक्ष

(iii) क्षुप ।

(च) बंगाल टाइगर कहाँ मिलते हैं ?

(i) पर्वतों में

(ii) डेल्टा क्षेत्रों में

(iii) अमेज़न में

उत्तर-

(क) पक्षी

(ख) अमेज़न

(ग) हुगली

(घ) शंकुधारी

(च) डेल्टा क्षेत्रों में

प्रश्न 3. निम्नलिखित स्तंभों को मिलाकर सही जोड़े बनाइए

(क) सूती कपड़े	(i) असम
(ख) मलोका	(ii) रेशम कीटपालन
(ग) पिरान्या	(iii) ढालू छत
(घ) रेशम कीट	(iv).गंगा के मैदान
(च) काजीरंगा	(v) मत्स्य

उत्तर-

(क) सूती कपड़े	गंगा के मैदान
(ख) मलोका	ढालू छत
(ग) पिरान्या	मत्स्य
(घ) रेशम कीट	रेशम कीटपालन
(च) काजीरंगा	असम

प्रश्न 4. कारण बताइए-

(क) वर्षावन लुप्त हो रहे हैं।

उत्तर- अमेजन नदी के वर्षावनों को आर्थिक विकास की गतिविधियों के कारण लगातार काटा जा रहा है। रिणामस्वरूप ये वन लुप्त होते जा रहे हैं। प्रतिवर्ष इनका एक बहुत बड़ा भाग लुप्त हो जाता है।

(ख) गंगा-ब्रह्मपुत्र के मैदानों में धान की कृषि होती है।

उत्तर – धान की कृषि के लिए उपजाऊ मिट्टी तथा बहुत अधिक जल की आवश्यकता होती है। गंगा-ब्रह्मपुत्र के मैदानों की डेल्टाई मिट्टी बहुत ही उपजाऊ है। यहाँ सिंचाई के लिए जल की भी कमी नहीं है। इसी कारण गंगा-ब्रह्मपुत्र के मैदानों में धान की कृषि होती है।

प्रश्न 5. मानचित्र कौशल-

(क) भारतीय प्रायद्वीप के रेखा मानचित्र पर गंगा, ब्रह्मपुत्र नदियों को उद्गम से मुहाने तक दर्शाएँ। दोनों नदियों की महत्त्वपूर्ण सहायक नदियों को भी दर्शाएँ ।

(ख) दक्षिण अमेरिका के राजनीतिक मानचित्र पर भूमध्य रेखा खींचे। भूमध्य.रेखा पर स्थित देशों को चिह्नित करें।

नोट – ये प्रश्न ऐम० बी० डी० मानचित्रावली की सहायता से विद्यार्थी स्वयं करें।

Please Share This Share this content

- Opens in a new window

- Opens in a new window

- Opens in a new window

- Opens in a new window

- Opens in a new window

- Opens in a new window

- Opens in a new window

- Opens in a new window

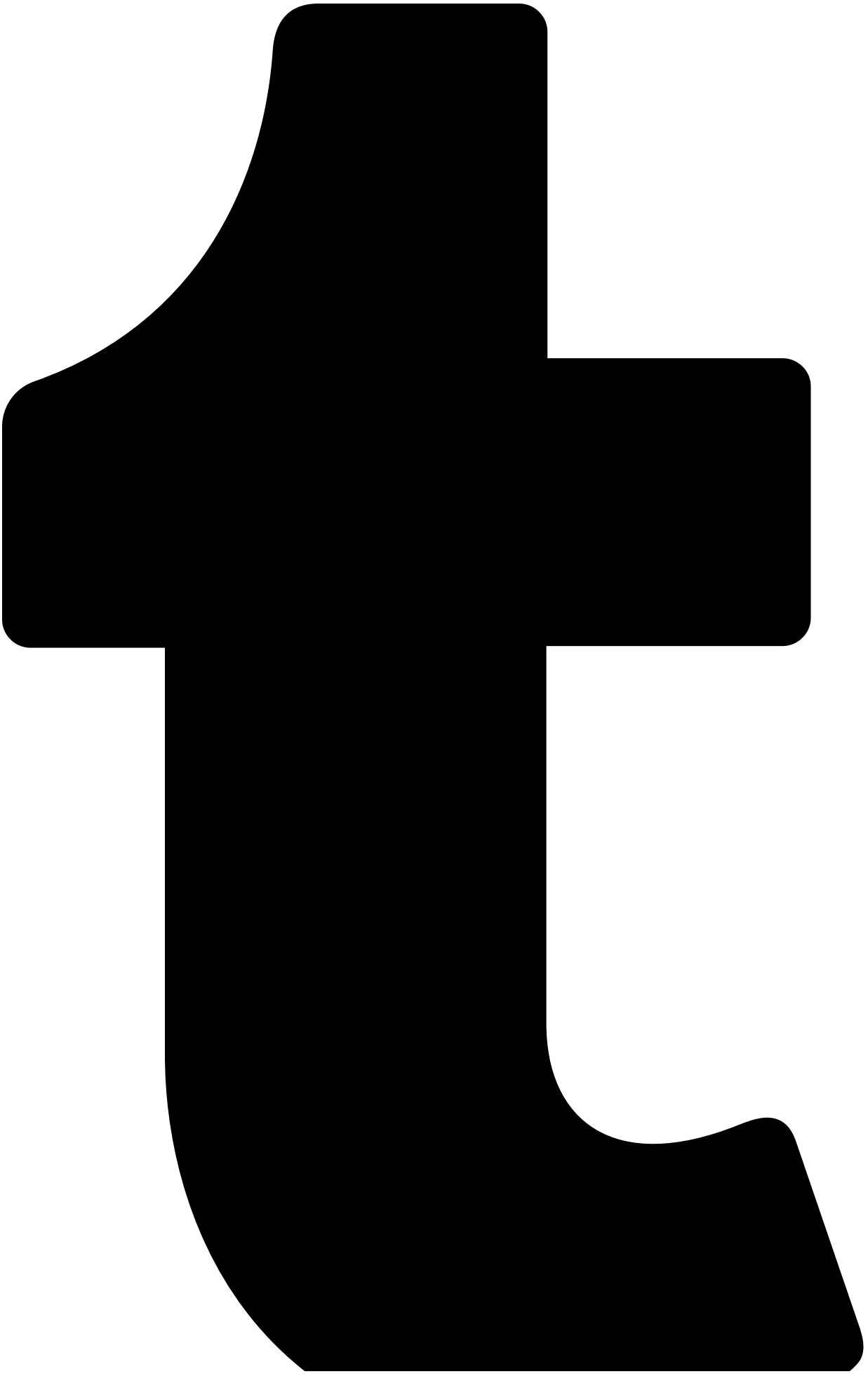

- Opens in a new window



- Opens in a new window

You Might Also Like

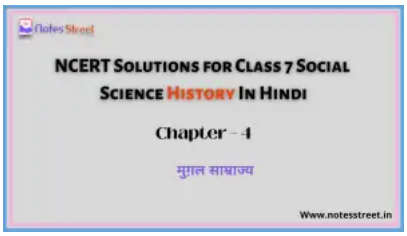

NCERT Solutions for Class 7 Social Science History Chapter – 4 मुग़ल साम्राज्य

June 13, 2022

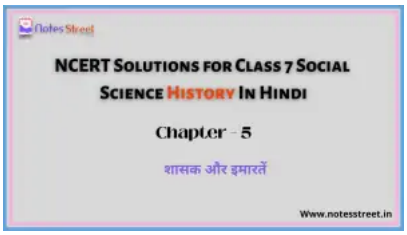

NCERT Solutions for Class 7 Social Science History Chapter – 5 शासक और इमारतें

June 13, 2022

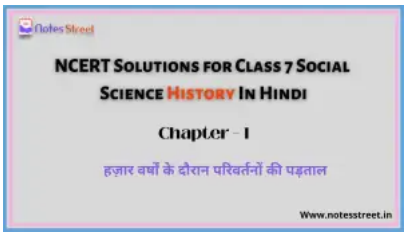

NCERT Solutions for Class 7 Social Science History Chapter – 1 हज़ार वर्षों के दौरान परिवर्तनों की पड़ताल

June 12, 2022