Skip to content

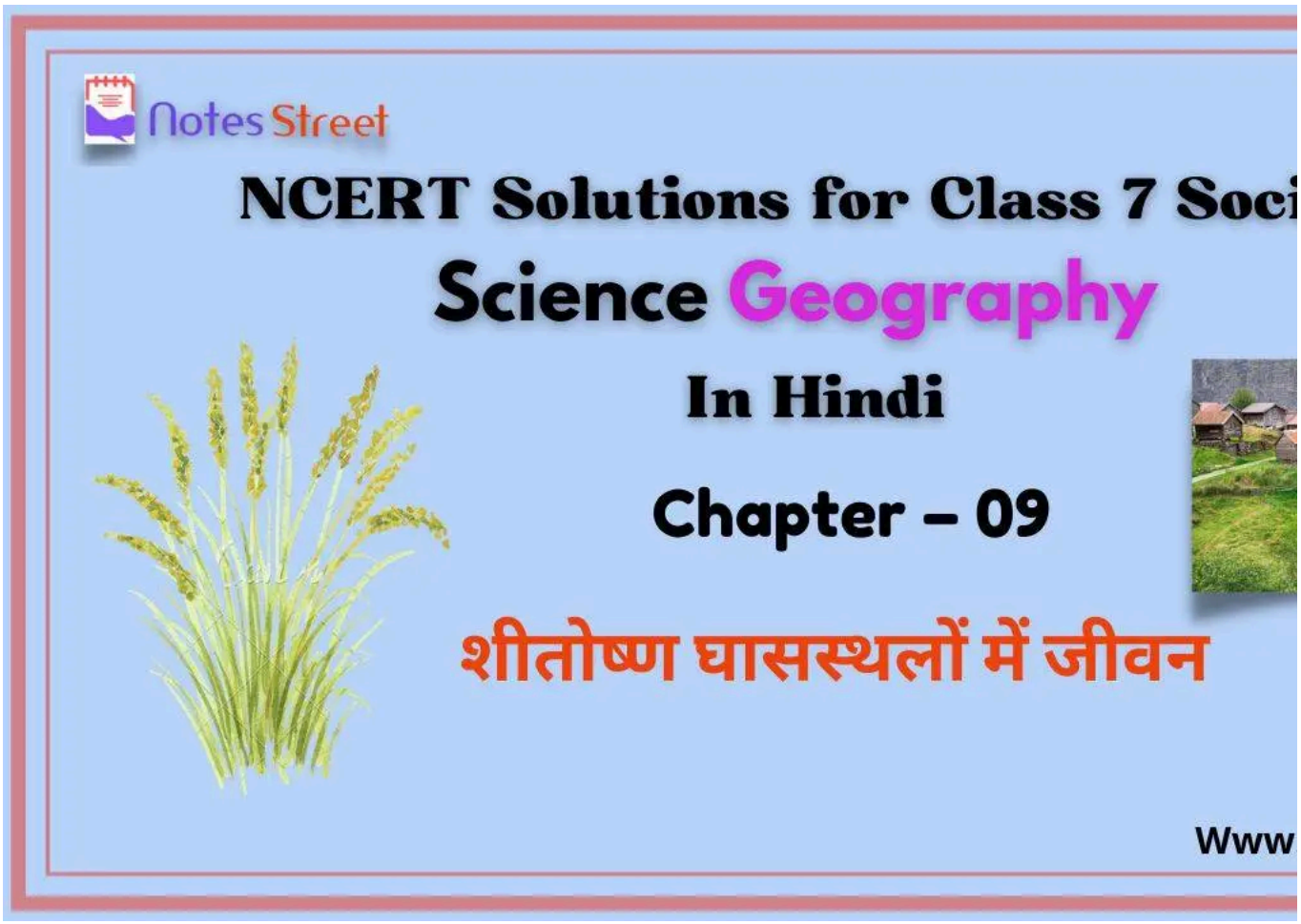

NCERT Solutions for Class 7 Social Science Geography Chapter – 9 शीतोष्ण घासस्थलों में जीवन

- Post category:NCERT Solutions for Class 7

Here we are providing **NCERT Solutions for Class 7** Social Science Geography Chapter – 9 शीतोष्ण घासस्थलों में जीवन Solutions are important for Class 7 students as it is an extremely important class and is also a year in which students learn the fundamentals of concepts that help them lay a solid foundation for their higher education. The NCERT solutions provide extensive material to enable students to form a good foundation with the foundations of the NCERT Class 7 Geography textbook. Class 7 Geography NCERT Solutions for Class 7 Social Science Geography Chapter – 9 शीतोष्ण घासस्थलों में जीवन Improve your subject knowledge and solve multiple exam questions with ease by practicing regularly at NCERT Solutions. If You want class wise notes then **click here**

NCERT Solution for Class 7 Social Science Geography Chapter – 9 शीतोष्ण घासस्थलों में जीवन

अध्याय के महत्त्वपूर्ण अंश

■ विश्व के घासस्थल – घासस्थलों को दो मुख्य श्रेणियों में बाँटा जाता है— शीतोष्ण प्रदेश के घास स्थल एवं उष्णकटिबंधीय प्रदेश के घासस्थल।

■ प्रेअरी – उत्तरी अमेरिका के शीतोष्ण घासस्थल को 'प्रेअरी' कहते हैं ।

■ प्रेअरी की जलवायु — प्रेअरी में उच्च तापमान वाली महाद्वीपीय जलवायु पाई जाती है।

■ रैंच-रैंच प्रेअरी के विशाल पशु फार्मों को कहते हैं।

■ वेल्ड – दक्षिण अफ्रीका के शीतोष्ण घास स्थल को वेल्ड कहते हैं।

■ वेल्ड के जानवर – शेर, तेंदुआ, चीता तथा कुडू वेल्ड के प्रमुख जानवर हैं।

■ वेल्ड के लोगों के व्यवसाय – वेल्ड पशुपालन तथा खनन के लिए प्रसिद्ध है।

अभ्यास के प्रश्न (Textual Questions)

प्रश्न 1. निम्न प्रश्नों के उत्तर दीजिए-

(क) अमेरिकी शीतोष्ण घासस्थल को क्या कहा जाता है ?

उत्तर – अमेरिकी शीतोष्ण घासस्थल को 'प्रेअरी' कहते हैं।

(ख) उत्तर अमेरिकी घासस्थल पशु चरागाह को क्या कहते हैं ?

उत्तर- रैंच

(ग) वेल्ड को अपवाहित करने वाली नदियों के नाम बताइए।

उत्तर- ऑरेंज तथा लिमपोपो की सहायक नदियाँ ।

(घ) वेल्ड में वर्षा ऋतु कब आती है ?

उत्तर- वेल्ड में वर्षा ऋतु नवंबर में आती है जो फरवरी तक रहती है।

(च) दक्षिण अफ्रीकी घासस्थल के लोगों का मुख्य व्यवसाय क्या है ?

उत्तर- दक्षिणी अफ्रीकी घासस्थल के लोगों का मुख्य व्यवसाय पशुपालन है। यहाँ का एक महत्त्वपूर्ण व्यवसाय खनन है।

प्रश्न 2. सही (✓) उत्तर चिह्नित कीजिए-

(क) मिसीसिपी नदी अपवाहित करती है ?

(i) कनाडा

(ii) अफ्रीका

(iii) संयुक्त राज्य अमेरिका ।

(ख) ड्रेकेंसबर्ग पर्वत किसे घेरते हैं ?

(i) प्रेअरी

(ii) वेल्ड

(iii) पंपास।

(ग) मेरिनो प्रजाति है-

(i) मछली

(ii) हाथी

(iii) भेड़।

(घ) किंबरले किसके लिए प्रसिद्ध है ?

(i) हीरा

(ii) चाँदी

(iii) प्लैटिनम

उत्तर-

(क) संयुक्त राज्य अमेरिका

(ख) वेल्ड

(ग) भेड़

(घ) हीरा

प्रश्न 3. निम्नलिखित स्तंभों को मिलाकर सही जोड़े बनाइए

(क) काओबॉय	(i) लोहा एवं इस्पात
(ख) सोना	(ii) प्रेअरी
(ग) कुडू	(iii) गर्म पवन
(घ) चिनूक	(iv) जोहांसबर्ग
(च) कोयला	(v) पशु

उत्तर-

(क) काओबॉय	प्रेअरी
(ख) सोना	जोहांसबर्ग
(ग) कुडू	पशु
(घ) चिनूक	गर्म पवन
(च) कोयला	लोहा एवं इस्पात

प्रश्न 4. कारण बताइए-

(क) प्रेअरी को 'विश्व का धान्यागार' कहा जाता है।

उत्तर – प्रेअरी क्षेत्र में किसान वैज्ञानिक विधियों से कृषि करते हैं। वे ट्रेक्टर, हारवेस्टर तथा कंबाइन जैसी कृषि मशीनों का प्रयोग करते हैं। फलस्वरूप यहाँ गेहूँ का अत्यधिक उत्पादन होता है। इसी कारण प्रेअरी को 'विश्व का धान्यागार' कहा जाता है।

(ख) वेल्ड में ऊनी उद्योग का विकास।

उत्तर- वेल्ड में भेड़ पालन लोगों का मुख्य व्यवसाय है। भेड़ें मुख्यतः ऊन के लिए ही पाली जाती हैं। यहाँ की मेरिनो प्रजाति की भेड़ की ऊन उत्तम कोटि की होती है।परिणामस्वरूप वेल्ड में ऊनी उद्योग बहुत अधिक विकसित है।

प्रश्न 5. मानचित्र कौशल।

उत्तर – उत्तरी अमेरिका के रे खा मानचित्र पर रॉकी पर्वत, ग्रेट लेक, मिसीसिपी नदी, सस्केचवान नदी, शिकागो एवं विनिपेग शहर चिह्नित करें।

नोट – इसे ऐम० बी० डी० मानचित्रावली की सहायता से विद्यार्थी स्वयं करें ।

Please Share This Share this content

- Opens in a new window



- Opens in a new window

- Opens in a new window

- Opens in a new window

- Opens in a new window

- Opens in a new window

- Opens in a new window

- Opens in a new window

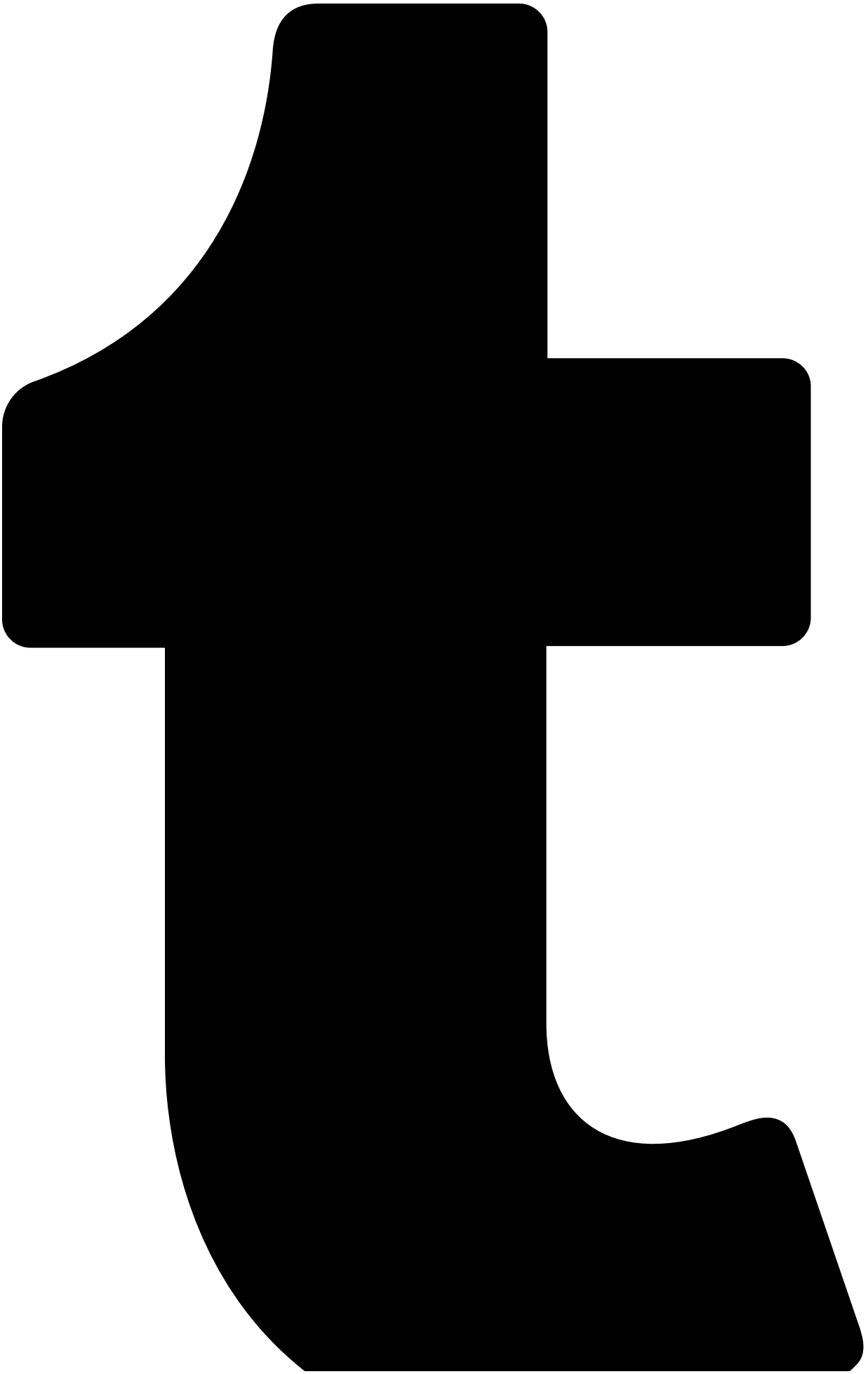

- Opens in a new window



- Opens in a new window

You Might Also Like

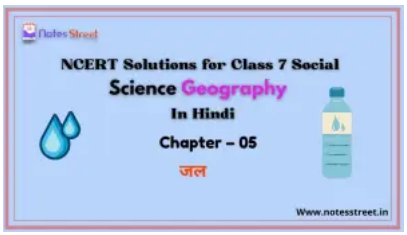

NCERT Solutions for Class 7 Social Science Geography Chapter – 5 जल

June 16, 2022

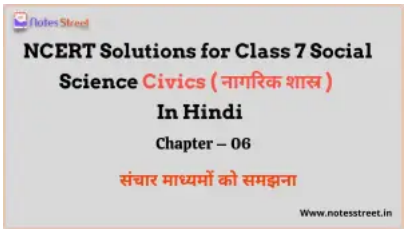

NCERT Solutions for Class 7 Social Science Civics Chapter – 6 संचार माध्यमों को समझना

June 14, 2022

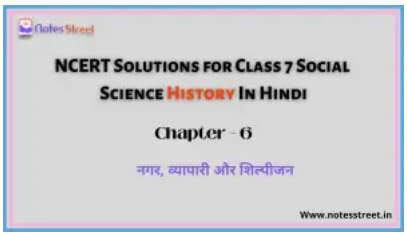

NCERT Solutions for Class 7 Social Science History Chapter – 6 नगर, व्यापारी और शिल्पीजन

June 13, 2022