Skip to content

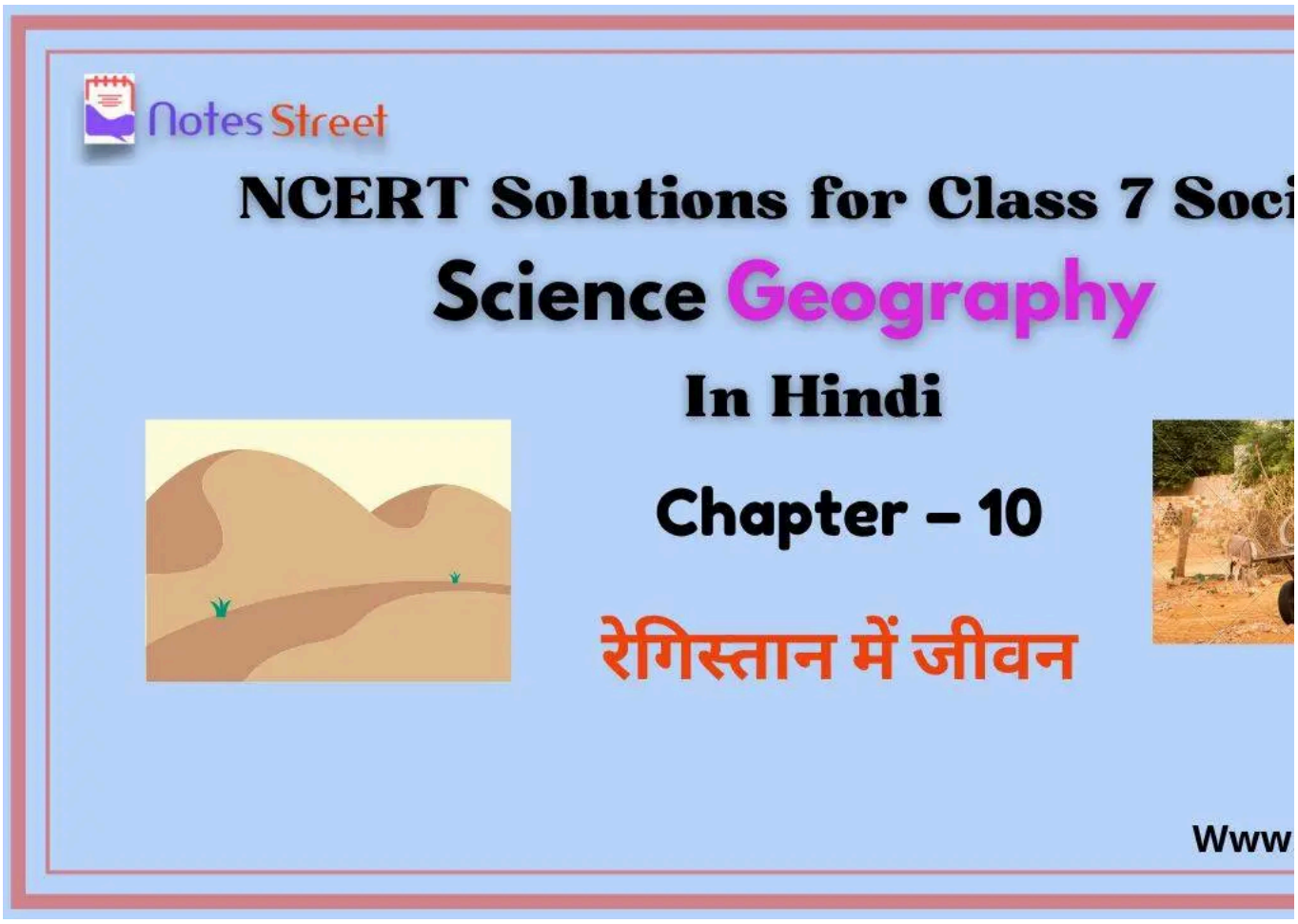

NCERT Solutions for Class 7 Social Science Geography Chapter – 10 रेगिस्तान में जीवन

- Post category:NCERT Solutions for Class 7

Here we are providing **NCERT Solutions for Class 7** Social Science Geography Chapter – 10 रेगिस्तान में जीवन Solutions are important for Class 7 students as it is an extremely important class and is also a year in which students learn the fundamentals of concepts that help them lay a solid foundation for their higher education. The NCERT solutions provide extensive material to enable students to form a good foundation with the foundations of the NCERT Class 7 Geography textbook. Class 7 Geography NCERT Solutions for Class 7 Social Science Geography Chapter – 10 रेगिस्तान में जीवन Improve your subject knowledge and solve multiple exam questions with ease by practicing regularly at NCERT Solutions. If You want class wise notes then **click here**

NCERT Solution for Class 7 Social Science Geography Chapter – 10 रेगिस्तान में जीवन

अध्याय के महत्त्वपूर्ण अंश

■ रेगिस्तान – शुष्क तथा वनस्पति रहित प्रदेश को रेगिस्तान कहते हैं।

■ सहारा रेगिस्तान – उत्तरी अफ्रीका के एक बड़े भू-भाग पर फैला हुआ एक गर्म रेगिस्तान ।

■ मरुद्यान – यह रेगिस्तानों में ऐसा प्रदेश होता है जहाँ जल मिलता है।

■ लद्दाख – यह एक ठंडा रेगिस्तान है।

■ खा पा चान– यह लद्दाख का एक अन्य नाम है। इसका अर्थ है-हिमभूमि

■ चीरू या तिब्बती एंटीलोप- इस जानवर से 'शाहतूश' नामक ऊन मिलती है।

■ शरपत अथवा विलो – यह एक पेड़ है, जिसका उपयोग क्रिकेट का बल्ला बनाने में किया जाता है।

अभ्यास के प्रश्न (Textual Questions)

प्रश्न 1. निम्न प्रश्नों के उत्तर दीजिए –

(क) विश्व में कौन-से दो प्रकार के रेगिस्तान पाये जाते हैं ?

उत्तर- गर्म और ठंडे।

(ख) सहारा रेगिस्तान किस महाद्वीप में स्थित है ?

उत्तर- अफ्रीका महाद्वीप में।

(ग) लद्दाख रेगिस्तान की जलवायुगत परिस्थितियाँ क्या हैं ?

उत्तर-

(1) लद्दाख एक ठंडा रेगिस्तान है। अधिक ऊँचाई पर स्थित होने के कारण यहाँ की जलवायु अत्यधिक शीतल एवं शुष्क होती है।

(2) वायु की परत पतली होने के कारण धूप तीखी लगती है।

(3) ग्रीष्म ऋतु में यहाँ दिन का तापमान 0° से० से कुछ अधिक रहता है परंतु रात का तापमान शून्य से 30° से० नीचे चला जाता है।

(4) शीत ऋतु में यहाँ का तापमान लगभग – 40° से० रहता है।

(5) हिमालय के वृष्टि-छाया क्षेत्र में स्थित होने के कारण यहाँ वर्षा बहुत ही कम होती है। यह साल भर में 10 सेंटीमीटर से अधिक नहीं होती।

(घ) लद्दाख में पर्यटकों के लिए प्रमुख आकर्षण क्या है ?

उत्तर- लद्दाख में पर्यटकों के लिए निम्नलिखित प्रमुख आकर्षण हैं-

(1) गोंपा दर्शन

(2) घास के मैदान

(3) हिमनद

(4) उत्सव तथा अनुष्ठान ।

(च) सहारा रेगिस्तान के लोग किस तरह के वस्त्र पहनते हैं ?

उत्तर – सहारा रेगिस्तान में वायु बहुत गर्म होती है और सारा दिन धूल भरी आँधियाँ चलती हैं। इनसे बचने के लिए लोग भारी वस्त्र पहनते हैं।

(छ) लद्दाख में उगने वाले पेड़ों के नाम बताएँ।

उत्तर- लद्दाख घाटी में शरपत (विलो) तथा पॉप्लर के पेड़ उगते हैं। ग्रीष्म ऋतु में सेब, खूबानी तथा अखरोट के पेड़ फलते-फूलते हैं।

प्रश्न 2. सही (✓) उत्तर चिह्नित कीजिए-

(क) सहारा अफ्रीका के किस भाग में स्थित है ?

(i) दक्षिणी

(ii) उत्तरी

(iii) पश्चिमी

(ख) सहारा किस प्रकार का रेगिस्तान है ?

(i) ठंडा

(ii) गर्म

(iii) मृदु ।

(ग) लद्दाख रेगिस्तान के अधिकांश निवासी हैं-

(i) ईसाई एवं मुसलमान

(ii) बौद्ध एवं मुसलमान

(iii) ईसाई एवं बौद्ध

(घ) रेगिस्तान की विशेषता है-

(i) विरल वनस्पति

(ii) अधिक वर्षण

(iii) अल्प जलवाष्पण

(च) लद्दाख में 'हेमिस' प्रसिद्ध है-

(i) मंदिर

(ii) चर्च

(iii) बौद्ध मठ

(छ) मिस्र निम्नलिखित फसल के लिए प्रसिद्ध है-

(i) गेहूँ

(ii) मकई

(iii) कपास

उत्तर-

(क) उत्तरी

(ख) गर्म

(ग) बौद्ध एवं मुसलमान

(घ) विरल वनस्पति

(च) बौद्ध मठ

(छ) कपास

प्रश्न 3. निम्नलिखित स्तंभों को मिलाकर सही जोड़े बनाइए-

(क) मरुद्यान	(i) लीबिया
(ख) बेदूईन	(ii) बौद्ध मठ
(ग) तेल	(iii) हिमनद

(घ) गैंग्री	(iv) जल के साथ गर्त
(च) लामायुरु	(v) सहारा

उत्तर-

(क) मरुद्यान	जल के साथ गर्त
(ख) बेदूईन	सहारा
(ग) तेल	लीबिया
(घ) गैंग्री	हिमनद
(च) लामायुरु	बौद्ध मठ

प्रश्न 4. कारण बताइए-

(क) रेगिस्तान में अत्यल्प वनस्पति होती है।

उत्तर – रेगिस्तान में वर्षा बहुत ही कम होती है और रेत एवं बर्फ का विस्तार होता है। शुष्क जलवायु के कारण पेड़-पौधे नहीं उग पाते। इसी कारण रेगिस्तान में अत्यल्प (बहुत

ही कम) वनस्पति होती है।

(ख) सहारा रेगिस्तान के लोग भारी वस्त्र पहनते हैं।

नोट – इसके लिए अभ्यास का I (च) पढ़ें।

प्रश्न 5. मानचित्र कौशल-

(क) अफ्रीका के मानचित्र पर सहारा रेगिस्तान को चिह्नित करें।

(ख) भारत के रूपरेखा मानचित्र पर काराकोरम श्रेणी, जास्कर श्रेणी, लद्दाख एवं जोजीला दर्रा को चिह्नित करें।

नोट – ऐम० बी० डी० मानचित्रावली की सहायता से स्वयं करें।

Please Share This Share this content

- Opens in a new window



- Opens in a new window

- Opens in a new window

- Opens in a new window

- Opens in a new window

- Opens in a new window

- Opens in a new window

- Opens in a new window

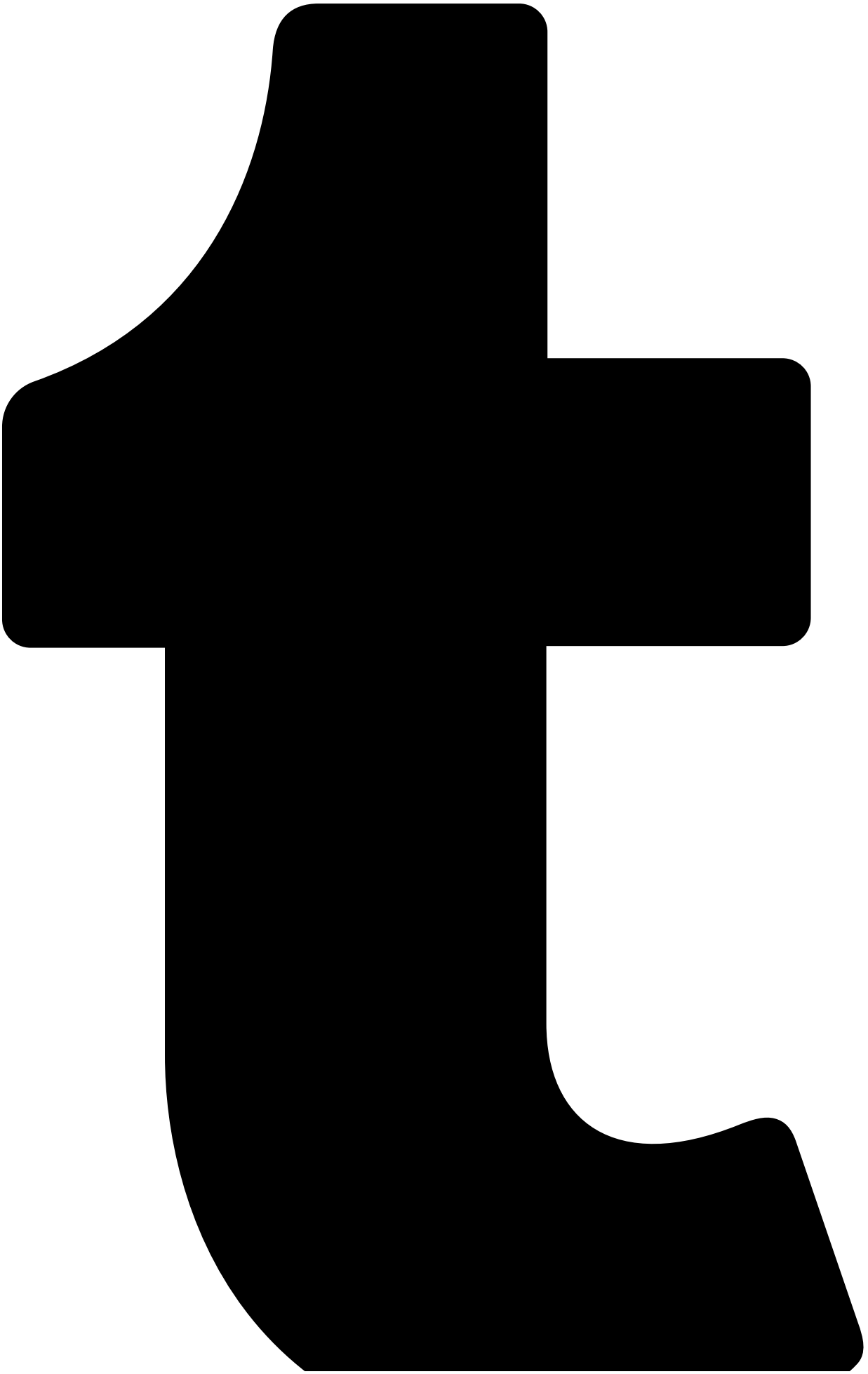

- Opens in a new window



- Opens in a new window

You Might Also Like

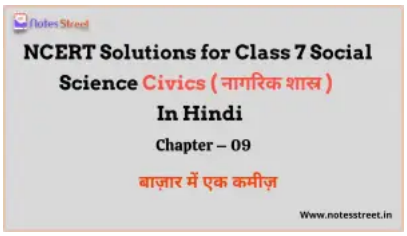

NCERT Solutions for Class 7 Social Science Civics Chapter – 9 बाज़ार में एक कमीज़

June 14, 2022

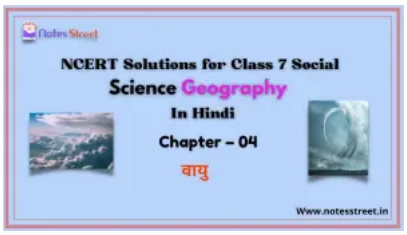

NCERT Solutions for Class 7 Social Science Geography Chapter – 4 वायु

June 16, 2022

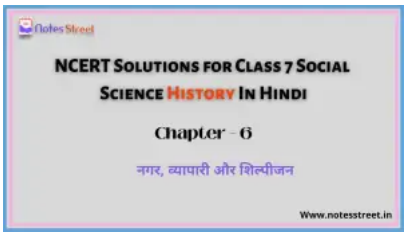

NCERT Solutions for Class 7 Social Science History Chapter – 6 नगर, व्यापारी और शिल्पीजन

June 13, 2022