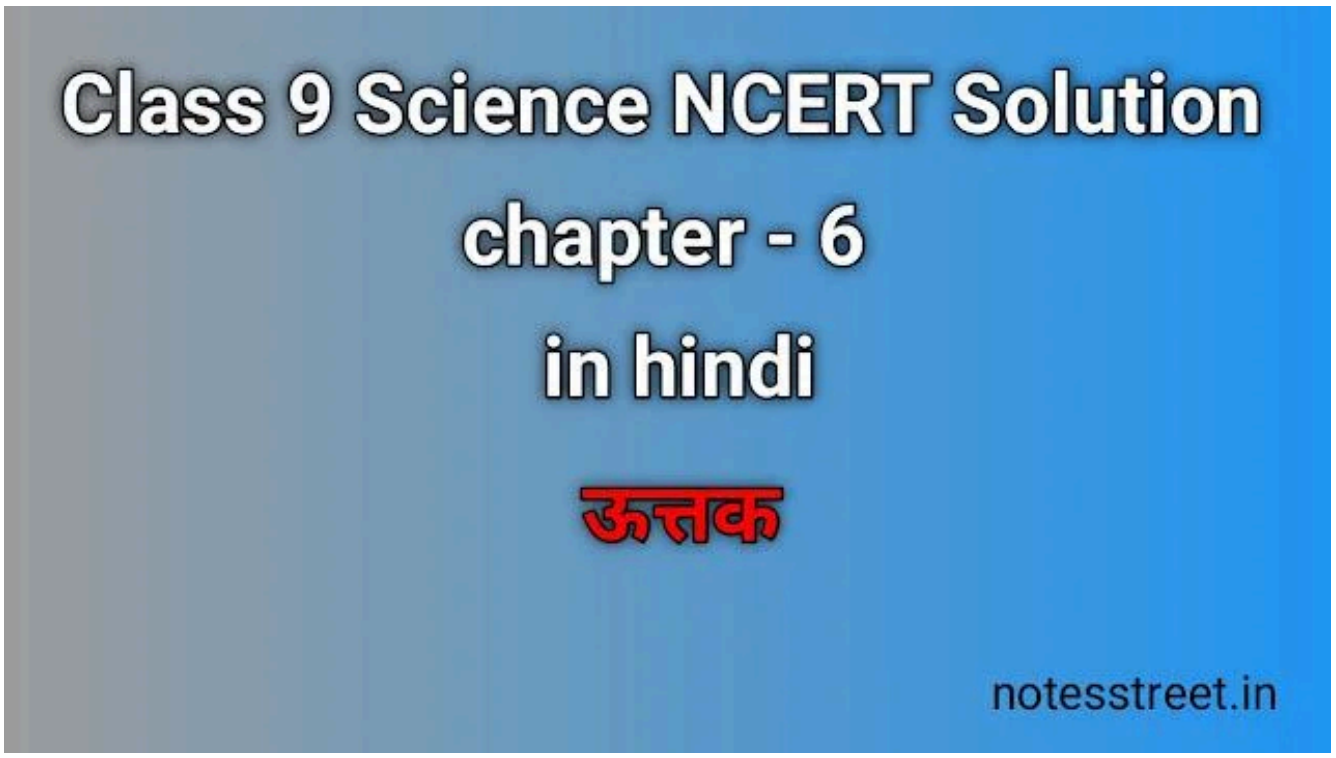

Class 9 Science NCERT Solution Chapter – 6 ऊतक

Class 9 Science NCERT Solution In Hindi

Class 9 Science NCERT Solution Chapter – 6 ऊतक

Why NCERT Book solutions is best for exam?

There are many expert saying that solution of NCERT books of class 9 are best because every state have adopted NCERT Syllabus so that question will come in board exam from the NCERT Syllabus only. and also it preferred in explaining the solutions in the simplest language ,and also question has very logic type so that it will help to students that crack the national level competition exam like IIT JEE,NEET. which is very easy for you to learn concept of subject . The solution experts have identified that maximum questions asked on board exams are directly from NCERT books and therefore, by providing a complete solution of NCERT books helps the student to attain good marks in Borad exam as well as competition exam. To prepare CBSE board exams of class 9 and also various state board exam , it is very important to have a strong conceptual base on all subjects and therefore, at that time the solution of NCERT performing well on board exams. we are providing complete NCERT solution free and in a pdf format You just need to open our website and download it .

Q1 . उत्तक क्या है ?
उत्तर : एक ही प्रकार की संरचना और कार्य करने वाले कोशिकाओं के समूह को उत्तक कहते हैं

Q2 . बहुकोशिक जीवों में उत्तकों का क्या उपयोग है ?
उत्तर : एक कोशिकीय जीवों में एक अकेली कोशिका सभी मुलभुत कार्यों जैसे गति , श्वसन पाचन और उत्सर्जन आदि को करता है | जबकि बहुकोशिकीय जीवों के विशेष कार्यों के संपादन के लिए शरीर के विशिष्ट अंगों में विशिष्ट उत्तक पाए जाते हैं |
जैसे– शरीर में गति के पेशीय उनक कार्य करता है , तो संवेदनाओं को शरीर के एक भाग से दुसरे भाग तक पहुंचाने के लिए तंत्रिका उत्तक कार्य करता है । इस प्रकार हम देखते है कि बहुकोशिकीय जीवों में उत्तकों में श्रम विभाजन है

Q3.प्रकाश संश्लेषण के लिए किस गैस की आवश्यकता होती है ?
उत्तर : कार्बन डाइऑक्साइड ।

Q4 . पौधे में वाष्पोत्सर्जन के कार्यों का उल्लेख करें ।
उत्तर : पौधे में वाष्पोत्सर्जन की क्रिया रंधो के द्वारा होता है । इस क्रिया में पौधे की पत्तियों से जल का ह्रास होता है । मरुस्थलीय पौधों में उनकी बाहरी सतह वाले एपिडर्मिस में क्यूटीन नामक पदार्थ होता है जो पौधे अवांछित जल के ह्रास को रोकता है

Q5. सरल ऊतकों के कितने प्रकार है ?
उत्तर : (i) पैरेन्काइमा
(ii) कॉलेन्काइमा
(iii) स्केलेरेनकाइमा

Q6 . प्ररोह का शीर्षस्थ विभज्योतक कहाँ पाया जाता है ?
उत्तर : प्ररोह का शीर्षस्थ विभज्योतक पौधे के तने और जड़ के वृद्धि वाले भाग में पाया जाता है यह वृद्धि वाले भाग में नए कोशिकाओं का विकास करता है ।

Q7 . नारियल का रेशा किस उत्तक का बना होता है ?
उत्तर : नारियल का रेशा स्केलेरेनकाइमा उत्तक का बना होता है ।

Q8 . फ्लोएम के संघटक कौन – कौन से हैं ?
उत्तर : फ्लोएम के चार संघटक है –
(i) चालनी नलिका
(ii) साथी कोशिकाएं
(iii) फ्लोएम पैरेंकाइमा तथा
(iv) फ्लोएम रेशे

Q9 . उस ऊतक का नाम बताएं जो हमारे शरीर में गति के लिए उत्तरदायी है ।
उत्तर : पेशीय उत्तक

Q10. न्यूरॉन देखने मे कैसा लगता है?
उत्तर : तंत्रिका ऊतक की कोशिकाओं को तंत्रिका कोशिका या न्यूरॉन कहा जाता है । न्यूरॉन में कोशिकाएँ केन्द्रक तथा कोशिकाद्रव्य(साइटोप्लाज्म) होते हैं । इससे लंबे , पतले बालों जैसी शाखाएँ निकली होती है । प्रायः प्रत्येक न्यूरीन में इस तरह का एक लंबा प्रवर्ध होता है , जिसको एक्सॉन कहते हैं तथा बहुत सारे छोटी शाखा वाले प्रवर्ध डेंडराइट्सा होते हैं एक तंत्रिका कोशिका 1 मीटर तक लंबी हो सकती है

Q11 . हृदय पेशी के तीन लक्षणों को बताएं ।
उत्तर : हृदय पेशी के तीन लक्षण निम्नलिखित हैं
(i) हृदय की पेशियाँ जीवन भर लयबद्ध होकर प्रसार एवं संकुचन करती रहती हैं
(ii) ये पेशियाँ अनैच्छिक होती है जो बिना थके कार्य करती रहती हैं ।
(iii) हृदय की पेशी कोशिकाएं बेलनाकार , शाखाओं वाली और एक – केंद्रकीय होती हैं ।

Q12 . एरिओलर ऊतक के क्या कार्य है ।

उत्तर : एरिओलर संयोजी ऊतक त्वचा और मांसपेशियों के बीच , रक्त नलिका के चारों ओर तथा नसों और अस्थि मज्जा में पाया जाता है

कार्य (functions)

(i) यह अंगों के भीतर की खाली जगह को भरता है
(ii) आंतरिक अंगों को सहारा प्रदान करता है ।
(iii) ऊतकों की मरम्मत में सहायता करता है ।

Q13 . ऊतक को परिभाषित करें ।

उत्तर : एक ही प्रकार की संरचना और कार्य करने वाले कोशिकाओं के समूह को उत्तक कहते हैं

Q15. कितने प्रकार के तत्व मिलकर जाइलेम ऊतक का निर्माण करते हैं ? उनके नाम बताएं ।

उत्तर : जाइलेम ये चार प्रकार के घटकों से मिलकर बना है

(i) इलेम ट्रेकिड्स (बहिनिका)
(ii) वाहिका
(iii) जाइलेम पैरेंकाइमा
(iv) जाइलेम फाइबर

Q16 . रंध्र के क्या कार्य हैं ?

उत्तर : स्टोमेटा का कार्य (Functions of stomata) :

(i) वाष्पोत्सर्जन की क्रिया भी स्टोमेटा के द्वारा होती है ।
(ii) गैसों का आदान – प्रदान भी स्टोमेटा के द्वारा ही होता हैं ।

Q17 . निम्नलिखित के नाम लिखें_

(a) ऊतक जो मैंह के भीतरी अस्तर का निर्माण करता है (b) ऊतक जो मनुष्य में पेशियों को अस्थि से जोड़ता है । (e) ऊतक जो पौधे में भोजन का संवहन करता है ।
(d) ऊतक जो हमारे शरीर में वसा का संचय करता है ।
(e) तरल अधात्री सहित संयोजी ऊतक ।
(f) मस्तिष्क में स्थित ऊतक ।

उत्तर : (a) सरल शल्की एपिथेलियम
(b) कांडरा
(e) फ्लोएम
(d) एडिपोस टिश्यू (वसामय उत्तक)
(e) रक्त
(f) तंत्रिका उत्तक

Q18 . निम्नलिखित में ऊतक के प्रकार की पहचान करें । त्वचा , पौधे का वल्क , अस्थि , वृक्षीय नलिका अस्तर , संवहन बंडल

उत्तर :

(i) **त्वचा–** स्तरित शल्की एपिथेलियम
(ii) **पौधे–** का वल्क– कॉर्क रक्षित उनक
(iii) **अस्थि–** संयोजी उत्तक
(iv) **वृक्षीय नलिका अस्तर–** घनाकार एपिथेलियम
(v) **संवहन बंडल –** जटिल उत्तक (जाइलेम और फ्लोएम)

Q19 . पौधे में एपिडर्मिस की क्या भूमिका है ?

उत्तर : पौधे में एपिडर्मिस की निम्नलिखित भूमिका है .

(i) यह जल की हानि कम करके पादपों की रक्षा करती हैं
(ii) यह जल प्रतिरोधी परत , जल के हानि के विरुद्ध यांत्रिक आधात तथा परजीवी कवक के प्रवेश से पौधों की रक्षा करती है
(iii) इसकी जेली जैसी पदार्थ जल प्रतिरोधी परत का निर्माण करती है ।
(iv) जड़ों की एपीडर्मल कोशिकाएँ पानी को सोखने का कार्य करती हैं ।

Q20 . पौधे में सरल ऊतक जटिल ऊतक से किस प्रकार भिन्न होते हैं ?

उत्तर

सरल ऊतक	जटिल ऊतक
(1) ये एक ही प्रकार की कोशिकाओ ये बने होते है । उदाहरण : – पैरेन्काइमा , कॉलेन्काइमा , और स्क्लेरेन्काइमा ।	(1) ये अनेक प्रकार की कोशिकाओ मिलकर बने होते हैं । उदाहरण : – जाइलम और फ्लोएम ।
(2) ये परत ऊतक के आधारीय पैंकिग का | निर्माण करते हैं ।	(2) ये संवहन बंडल का निर्माण करते है
(3) ये पतली और सरल कोशिका भित्ती वाली सरल कोशिकाओं से मिलकर बने होते	(3) इनकी कोशिका भित्ति मोटी होती हैं ।
(4) ये जीवित कोशिका है जो शिथिलता से जुड़ी होती है इसलिए उनका कोशिकाओ के बीच काफी जगह पाई जाती है ।	(4) जाइलम की अधिकांश कोशिकाएं मृत होती तथा फ्लोएम में फ्लोएम रेशें मृत होते हैं । इनकी आकृति नालिकाएँ या छिद्रत भित्ति वाली होती है ।

Q21 . कोशिका भित्ति के आधार पर पैरेन्काइमा , कॉलेन्काइमा और स्क्लेरेन्काइमा के बीच भेद स्पष्ट करें ।

उत्तर :

पैरेंकाइमा	कोलेन्काईमा	स्क्लेरेन्काइमा
(1) ये जीवित कोशिकाएँ होती है ।	(1)जीवित कोशिकाएँ होती हैं	(1) ये मृत कोशिकाएँ होती है
(2) कोशिका भित्ति पतली होती हैं ।	(2) कोशिका भित्ति मोटी होती है	(2) कोशिका भित्ति मोटी होती है ।
(3) इनकी कोशिकाओं के बीच काफी रिक्त स्थान होता है	(3) अंतरकोशिकीय अवकाश उपस्थित होती है	(3) अंतरकोशिकीय अवकाश अनुपस्थित होती है ।
(4) यह ऊतक भोजन का भण्डारण करता है और पौधों को सहायता प्रदान करता है	(4) यह पौधों में यांत्रिक सहायता प्रदान करता है ।	(4) यह पौधों के भागों को मजबूती प्रदान करता है

PLEASE SHARE THIS

YOU MIGHT ALSO LIKE

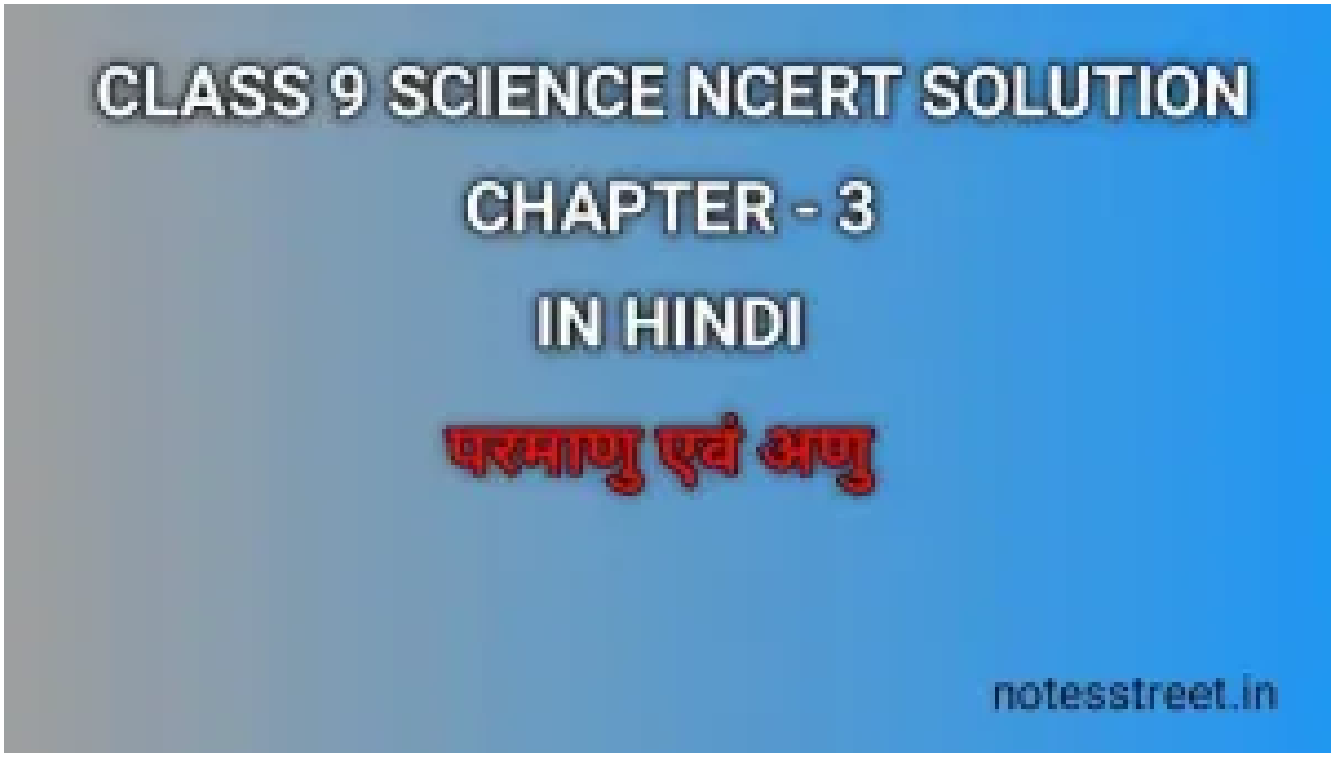

Class 9 Science NCERT Solution Chapter – 3 परमाणु एवं अणु

July 21, 2021

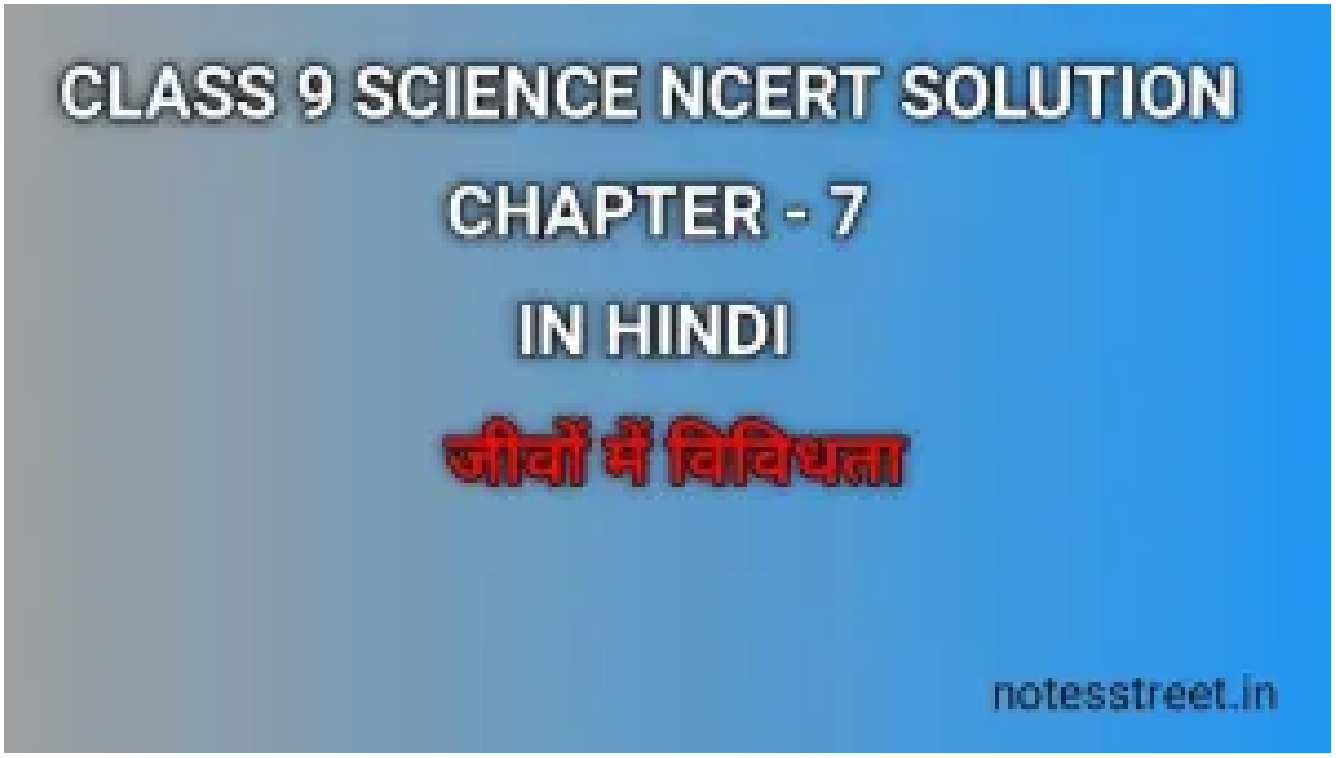

Class 9 Science NCERT Solution Chapter – 7 जीवों में विविधता

July 13, 2021

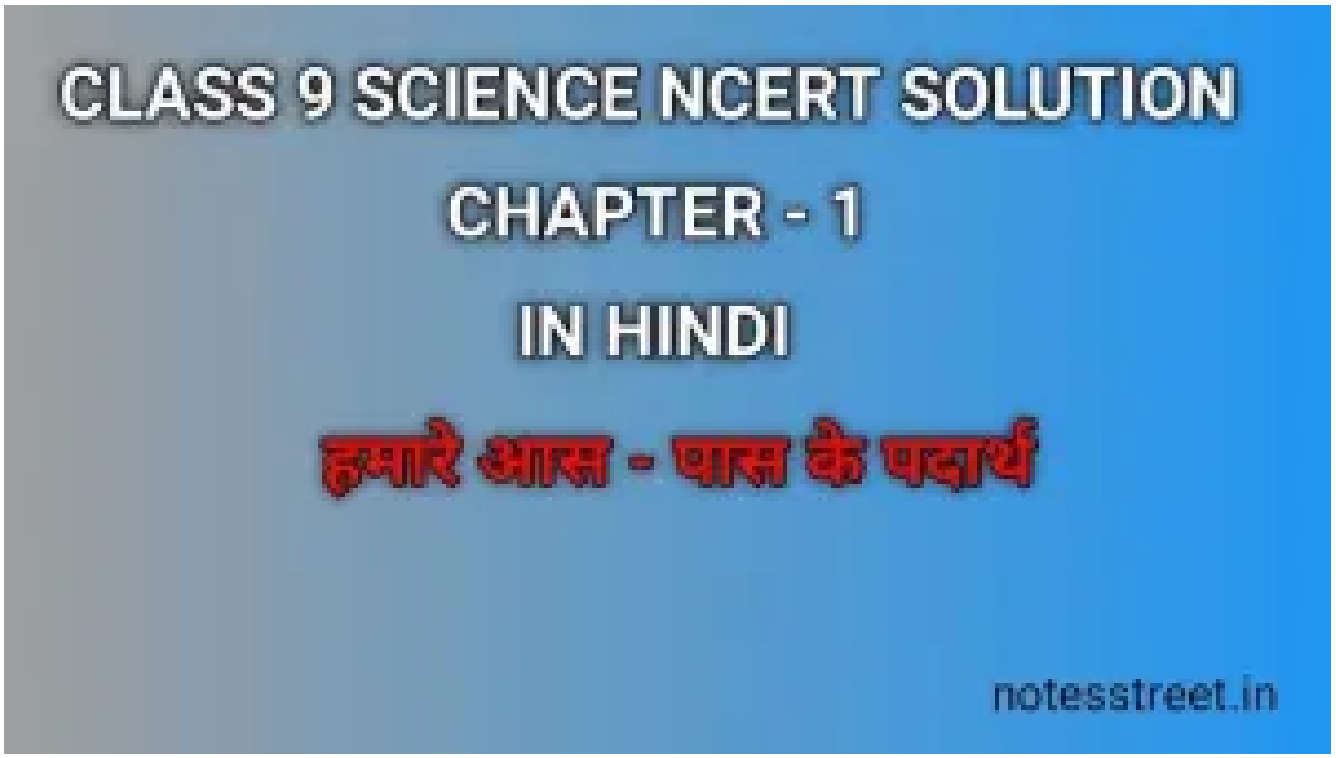

Class 9 Science NCERT Solution Chapter – 1 हमारे आस – पास के पदार्थ

July 6, 2021