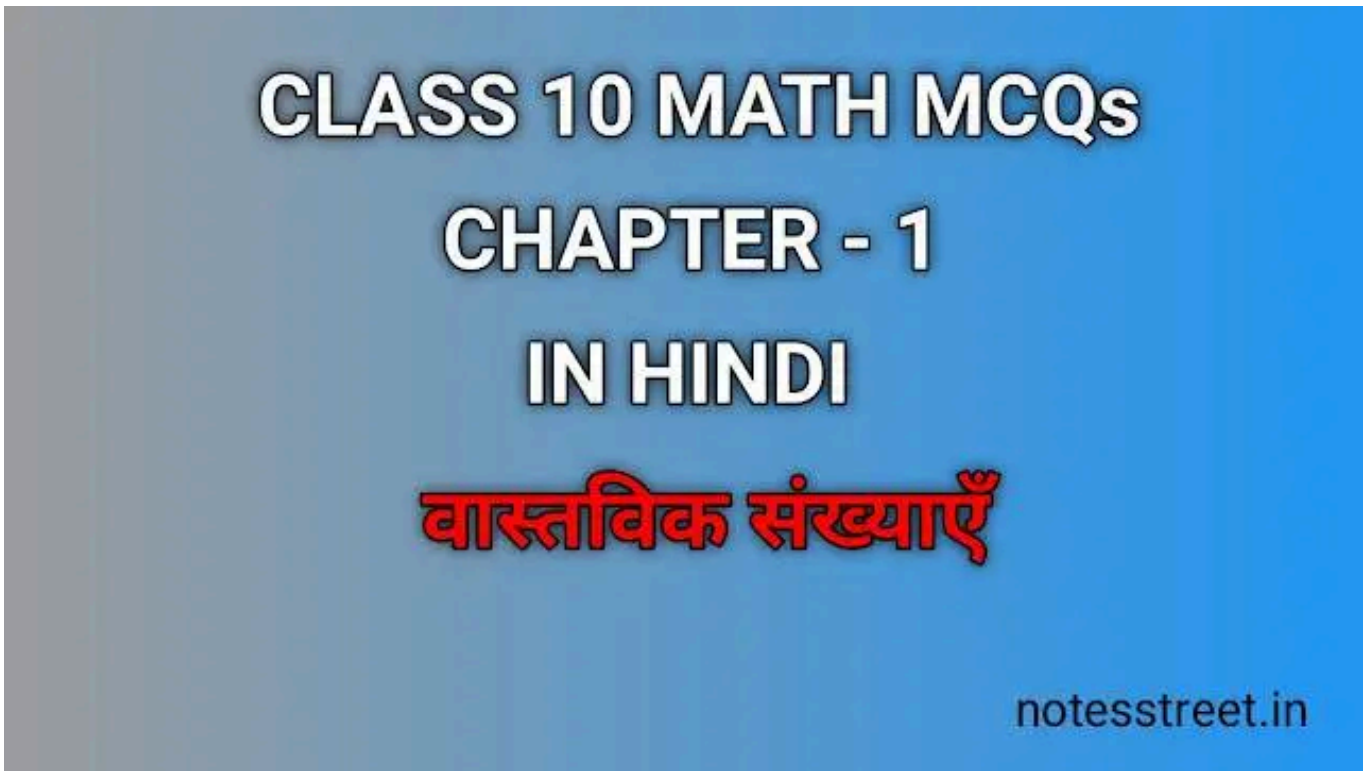

Class 10 Math MCQs Chapter 1 वास्तविक संख्या

Class 10 Math MCQs

Class 10 Math MCQs Chapter 1 वास्तविक संख्या

Class 10 Math MCQs Chapter 1 वास्तविक संख्या are provided here for the students who preparing for Class 10 Board Exam . Detailed solutions are also provided for all the questions. These Class 10 Math MCQs Chapter 1 MCQs will help the students to clear all the fundamental concepts and prepare effectively for class 10 maths exam. For Class 10 Math MCQs Chapter 1 PDF **Click Here**

.

1.निम्नलिखित में कौन-सी सबसे छोटी प्राकृत संख्या है?

(A) 0

(B) -1

(C) 1

(D) 2

उत्तर:- (C)

---

2. $\sqrt{12}$ का परिमेयीकरण गुणांक है .

(A) $\sqrt{3}$

(B) $\sqrt{2}$

(C) $\sqrt{6}$

(D) $2\sqrt{3}$

उत्तर-(A)

---

3. 45 तथा 60 का म०स० है

(A) 45

(B) 3

(C) 1

(D) 15

उत्तर-(D)

---

4. एक अशून्य परिमेय और अपरिमेय संख्या का गुणनफल होगा

(A) हमेशा परिमेय

(B) हमेशा अपरिमेय

(C) एक

(D) परिमेय या अपरिमेय

उत्तर-(B)

---

5. यूक्लिड विभाजन एल्गोरिथ्म दो धनात्मक पूर्णांकों के निम्न में से किसे परिकलित करने का तकनीक है?

(A) ल०स०

(B) म०स०

(C) भागफल

(D) शेषफल

उत्तर-(B)

---

6. यदि p एक धनात्मक पूर्णांक है तो धनात्मक सम पूर्णांक का रूप होगा

(A) 2p

(B) p +1

(C) p

(D) 2p + 1

उत्तर-(A)

---

7. किसी धनात्मक पूर्णांक q के लिए प्रत्येक धनात्मक विषम पूर्णांक का रूप होता है

(A) 6q

(B) 6q+2

(C) 6q+1

(D) 6q+4

उत्तर-(C)

---

8. यदि a = (2°x3x5) और b = (24x5x7) तब ल०स० (a, b) होगा

(A) 40

(B) 560

(C) 1120

(D) 1680

उत्तर-(D)

---

10. यदि m एक धनात्मक पूर्णांक है तो धनात्मक विषम पूर्णांक का रूप होगा

(A) 4m + 2

(B) 4m +4

(C) 4m + 1

(D) इनमें से कोई नहीं

उत्तर:- (C)

---

10. संख्या 2.13 113 1113 11113 ..... है

(A) पूर्णांक संख्या

(B) परिमेय संख्या

(C) अपरिमेय संख्या

(D) इनमें से कोई नहीं

उत्तर:- (C)

---

11. 144 के अभाज्य गुणनखंड में 2 का घातांक है

(A) 3

(B) 6

(C) 4

(D) 5

उत्तर:- (C)

---

12. यदि a और b अभाज्य संख्याएँ हैं, तो a और b का ल०स० है

(A) a

(B) b

(C) ab

(D) $\frac{a}{b}$

उत्तर:- (C)

---

13. दो परिमेय संख्याओं के बीच अधिकतम कितनी परिमेय संख्या हो सकती

(A) 1

(B) 2

(C) 3

(D) अनंत

उत्तर-(D)

---

14. सबसे छोटी भाज्य संख्या और सबसे छोटी अभाज्य संख्या का म०स० कितना होगा?

(A) 1

(B) 2

(C) 4

(D) इनमें से कोई नहीं

उत्तर-(B)

---

15. 96 का अभाज्य गुणनखण्ड क्या होगा?

(A) 24 × 32

(B) 23 × 33

(C) 25 × 31

(D) 2 × 35

उत्तर:- (C)

---

16. 6, 8 एवं 22 का ल०स० और म०स० का अनुपात है-

(A) 132 : 1

(B) 2 : 22

(C) 8 :6

(D) 12 : 3

उत्तर-(A)

---

17. दो लगातार संख्याओं का म०स० है

(A) 0

(B) 1

(C) 2 .

(D) 4

उत्तर-(B)

---

18. 5005 के कितने अभाज्य गुणनखण्डं हैं?

(A) 2

(B) 4.

(C) 6

(D) 7

उत्तर-(B)

---

19. दो संख्याओं a और 18 का ल०स० 36 तथा म०स० 2 है तो a का मान है

(A) 2

(B) 3

(C) 4

(D) 1

उत्तर:- (C)

---

20. सबसे छोटी अभाज्य और सबसे छोटी भाज्य संख्या का गुणनफल है

(A) 10

(B) 6

(C) 8

(D) 4

उत्तर-(D)

---

21. किसी पूर्णांक m के लिए सम संख्या का रूप है

(A) m+2

(B) 2m +1

(C) 2m

(D) 2m – 1

उत्तर-(A)

---

22. यदि प्रथम 13986 अभाज्य संख्याओं का योग N है, तो N हमेशा भाज्य होगा .....से

(A) 6

(B) 4

(C) 8

(D) इनमें से कोई नहीं

उत्तर-(D)

---

23. सबसे छोटी पूर्ण वर्ग संख्या जो 16, 20 तथा 24 प्रत्येक से विभाजित हो वह

(A) 240

(B) 1600

(C) 2400

(D) 3600

उत्तर-(D)

---

24. 6x4y तथा 12xy का महत्तम समापवर्तक है।

(A) 6x2y

(B) 6x

(C) 6y

(D) 6xy

उत्तर-(D)

---

25. $\sqrt{10} \times \sqrt{15}$ बराबर है ।

(A) $5\sqrt{6}$

(B) $6\sqrt{5}$

(C) $\sqrt{30}$

(D) $\sqrt{25}$

उत्तर-(A)

---

26. 64 के वर्गमूल को 64 के घनमूल से भाग देने का मान होगा-

(A) 64

(B) 2

(C) $\frac{1}{2}$

(D) $(64)^{\frac{2}{3}}$

उत्तर-(B)

---

27. वृत्ताकार पथ पर तीन धावक एक ही स्थान से दौड़ना प्रारंभ करते हैं तो एक चक्कर लगाने में क्रमशः 1 घंटे, 3 घंटे एवं 5 घंटे समय लगता है। तीनों को प्रस्थान बिन्दु पर पुनः मिलने में लगा समय होगा

(A) 3 घंटे

(B) 5 घंटे

(C) 1 घंटा

(D) 15 घंटे

उत्तर-(D)

---

28. वृत्ताकार पथ पर तीन धावक एक ही स्थान से दौड़ना प्रारंभ करते हैं तो एक चक्कर लगाने में क्रमशः 3 घंटे, 4 घंटे एवं 8 घंटे समय लगता है। तीनों को प्रस्थान बिंदु पर पुनः मिलने में लगा समय होगा

(A) 6 घंटे

(B) 8 घंटे

(C) 16 घंटे

(D) 24 घंटे

उत्तर-(D)

---

29. 18 तथा 72 का म० स० है.

(A) 18

(B) 72

(C) 9

(D) 2

उत्तर-(A)

---

30. दो धन पूर्णांकों a और b के लिए म०स०(a,b) × ल०स०(a,b) ab बराबर है

(A) 1

(B) 2

(C) 0

(D) a + b

उत्तर-(A)

---

31. निम्नलिखित में कौन-सा युग्म सह-अभाज्य है?

(A) (14,35)

(B) (18,25)

(C) (13,52)

(D) (21,84)

उत्तर-(B)

---

32. निम्नलिखित में से कौन यौगिक संख्या है?

(A) 11

(B) 21

(C) 31

(D) 41

उत्तर-(B)

---

33. दो संख्याओं का म०स० 27 एवं ल०स० 162 है। यदि उनमें से एक संख्या 54 है तो दूसरी संख्या क्या होगी?

(A) 36

(B) 45

(C) 9

(D) 81

उत्तर-(D)

---

34. निम्नलिखित में कौन-सा परिमेय संख्या है? __

(A) $\sqrt{\frac{1}{144}}$

(B) $\sqrt{\frac{50}{500}}$

(C) $\sqrt{32}$

(D) $5 + \sqrt{5}$

उत्तर:- (A)

---

35. निम्न में कौन-सा परिमेय है? –

(A) π

(B) $\sqrt{7}$

(C) $\sqrt{\frac{16}{25}}$

(D) $\frac{3\sqrt{3}}{\sqrt{2}}$

उत्तर-(C)

---

36. $\sqrt{3}$ है एक-.

(A) परिमेय संख्या

(B) प्राकृतिक संख्या

(C) अपरिमेय संख्या

(D) इनमें से कोई नहीं

उत्तर-(C)

---

37. निम्नलिखित में कौन परिमेय संख्या नहीं है?

(A) 2-3

(B) 5

(C) $\sqrt{2}$

(D) 16

उत्तर-(C)

---

38. निम्न में से कौन-सा अपरिमेय नहीं है?

(A) $\sqrt{\frac{64}{81}}$

(B) $2\sqrt{3}$

(C) $\sqrt{\frac{21}{35}}$

(D) $\sqrt{3}\sqrt{2}$

उत्तर:- (A)

---

39. निम्न में कौन अपरिमेय नहीं है?

(A) $\sqrt{10}$

(B) $\sqrt{24}$

(C) $\sqrt{35}$

(D) $\sqrt{121}$

उत्तर-(D)

---

40. 2 तथा 2.5 के बीच की अपरिमेय संख्या है—

(A) $\sqrt{11}$

(B) $\sqrt{5}$

(C) $\sqrt{2.25}$

(D) $\sqrt{12.5}$

उत्तर-(B)

---

41. संख्या $23.\bar{4}\bar{3}$ को $\frac{p}{q}$ के रूप में (जहाँ p, q पूर्णांक है और q ≠ 0) प्रकट किया जा सकता है

(A) $\frac{2320}{99}$

(B) $\frac{2343}{100}$

(C) $\frac{2343}{999}$

(D) $\frac{2390}{999}$

उत्तर:- (A)

---

42. $\sqrt{2}$ है एक :

(A) परिमेय संख्या

(B) अपरिमेय संख्या

(C) प्राकृत संख्या

(D) इनमें से कोई नहीं

उत्तर-(B)

---

43. निम्नलिखित में कौन-सी अपरिमेय संख्या है?

(A) $1.\bar{3}$

(B) $\sqrt{16}$

(C) $\sqrt{\frac{9}{27}}$

(D) $\sqrt{5} \times \sqrt{5}$

उत्तर-(C)

---

44. निम्नलिखित में कौन परिमेय संख्या है?

(A) $4 + \sqrt{7}$

(B) $10 + \sqrt{100}$

(C) $2 + \sqrt{3}$

(D) $5 + \sqrt{5}$

उत्तर-(B)

---

45. निम्नलिखित में किसका दशमलव प्रसार असांत है?

(A) $\frac{23}{50}$

(B) $\frac{39}{243}$

(C) $\frac{25}{1600}$

(D) $\frac{13}{625}$

उत्तर-(B)

---

46. निम्नलिखित में किसका दशमलव प्रसार सांत है?

(A) $\frac{3}{8}$

(B) $\frac{6}{15}$

(C) $\frac{17}{1536}$

(D) इनमें से कोई नहीं

उत्तर-(A)

---

47. $3.\overline{27}$ है?

(A) एक पूर्णांक

(B) एक परिमेय संख्या

(C) एक प्राकृतिक संख्या

(D) एक अपरिमेय संख्या

उत्तर-(B)

---

48. संख्या $0.\overline{32}$ को $\frac{p}{q}$ के रूप में (जहाँ p, q पूर्णांक हैं, q ≠ 0) लिखा जा सकता है

(A) $\frac{8}{25}$

(B) $\frac{29}{90}$

(C) $\frac{32}{99}$

(D) $\frac{32}{199}$

उत्तर-(B)

---

49. निम्नलिखित में से कौन-सा कथन सही है/सत्य है?

(A) दो अपरिमेय संख्याओं का गुणनफल हमेशा अपरिमेय होता है।

(B) एक परिमेय व एक अपरिमेय संख्या का गुणनफल हमेशा अपरिमेय होता है

(C) दो अपरिमेय संख्याओं का जोड़ कभी अपरिमेय नहीं हो सकता

(D) एक पूर्णांक तथा एक परिमेय संख्या का जोड़ कभी पूर्णांक नहीं हो सकता

उत्तर-(A)

---

50. निम्नलिखित में से कौन-सा भिन्न का दशमलव प्रसार सांत है?

(A) $\frac{11}{700}$

(B) $\frac{91}{2100}$

(C) $\frac{343}{2^3 \cdot 5^3 \cdot 7^3}$

(D) इनमें से कोई नहीं

उत्तर:- (C)

---

51. $0.\overline{13}$ =

(A) $\frac{13}{100}$

(B) $\frac{13}{90}$

(C) $\frac{13}{99}$

(D) $\frac{3}{99}$

उत्तर:- (C)

---

52. निम्नलिखित में किसका दशमलव प्रसार सांत

(A) $\frac{17}{81}$

(B) $\frac{16}{41}$

(C) $\frac{13}{45}$

(D) $\frac{19}{80}$

उत्तर-(D)

---

53. निम्नलिखित में किसका दशमलव प्रसार असांत है?

(A) $\frac{15}{400}$

(B) $\frac{17}{80}$

(C) $\frac{13}{121}$

(D) $\frac{14}{400}$

उत्तर:- (C)

---

54. निम्नलिखित में किसका दशमलव प्रसार सांत है?

(A) $\frac{15}{1600}$

(B) $\frac{19}{210}$

(C) $\frac{3}{88}$

(D) $\frac{8}{75}$

उत्तर-(A)

---

55. निम्नलिखित में किसका दशमलव प्रसार असांत है?

(A) $\frac{23}{50}$

(B) $\frac{39}{243}$

(C) $\frac{25}{1600}$

(D) $\frac{13}{625}$

उत्तर-(B)

---

56. निम्नलिखित में किसका दशमलव प्रसार सांत है?

(A) $\frac{3}{8}$

(B) $\frac{6}{15}$

(C) $\frac{17}{1536}$

(D) $\frac{13}{625}$

उत्तर-(A)

---

57. $3.2\overline{7}$ है?

(A) एक पूर्णांक

(B) एक परिमेय संख्या

(C) एक प्राकृतिक संख्या

(D) एक अपरिमेय संख्या

उत्तर-(B)

---

58. संख्या $0.\overline{32}$ को $\frac{p}{q}$ के रूप में (जहाँ p, q पूर्णांक हैं, q ≠ 0) लिखा जा सकता है

(A) $\frac{8}{25}$

(B) $\frac{29}{90}$

(C) $\frac{32}{99}$

(D) $\frac{32}{199}$

उत्तर-(B)

---

59. निम्नलिखित में से कौन-सा कथन सही है/सत्य है?

(A) दो अपरिमेय संख्याओं का गुणनफल हमेशा अपरिमेय होता है।

(B) एक परिमेय व एक अपरिमेय संख्या का गुणनफल हमेशा अपरिमेय होता है

(C) दो अपरिमेय संख्याओं का जोड़ कभी अपरिमेय नहीं हो सकता

(D) एक पूर्णांक तथा एक परिमेय संख्या का जोड़ कभी पूर्णांक नहीं हो सकता

उत्तर-(A)

---

60. निम्नलिखित में से कौन-सा भिन्न का दशमलव प्रसार सांत है?

(A) $\frac{11}{700}$

(B) $\frac{91}{2100}$

(C) $\frac{343}{2^3 \cdot 5^3 \cdot 7^3}$

(D) इनमें से कोई नहीं

उत्तर:- (C)

---

61. $0.\overline{13}$ =

(A) $\frac{13}{100}$

(B) $\frac{13}{90}$

(C) $\frac{13}{99}$

(D) $\frac{3}{99}$

उत्तर:- (C)

---

62. निम्नलिखित में किसका दशमलव प्रसार सांत है

(A) $\frac{17}{81}$

(B) $\frac{16}{41}$

(C) $\frac{13}{45}$

(D) $\frac{19}{80}$

उत्तर-(D)

---

63. निम्नलिखित में किसका दशमलव प्रसार असांत है?

(A) $\frac{15}{400}$

(B) $\frac{17}{80}$

(C) $\frac{13}{121}$

(D) $\frac{14}{400}$

उत्तर:- (C)

---

64. निम्नलिखित में किसका दशमलव प्रसार सांत है?

(A) $\frac{15}{1600}$

(B) $\frac{19}{210}$

(C) $\frac{3}{88}$

(D) $\frac{8}{75}$

उत्तर-(A)

NCERT Class 10 Math MCQs In Hindi

CHAPTER NO	CHAPTER NAMES
1	वास्तविक संख्याएँ
2	बहुपद
3	दो चर वाले रैखिक समीकरण युग्म
4	द्विघात समीकरण
5	समांतर श्रेढि
6	त्रिभुज
7	निर्देशांक ज्यामिति
8	त्रिकोणमिति का परिचय
9	त्रिकोणमिति के कुछ अनुप्रयोग
10	वृत
11	रचनाएँ
12	वृत्तों से संबंधित क्षेत्रफल
13	पृष्ठीय क्षेत्रफल और आयतन
14	सांख्यिकी
15	प्रायिकता

PLEASE SHARE THIS

YOU MIGHT ALSO LIKE

Class 10 Math Important MCQs Chapter – 5 Arithmetic Progressions

July 25, 2023

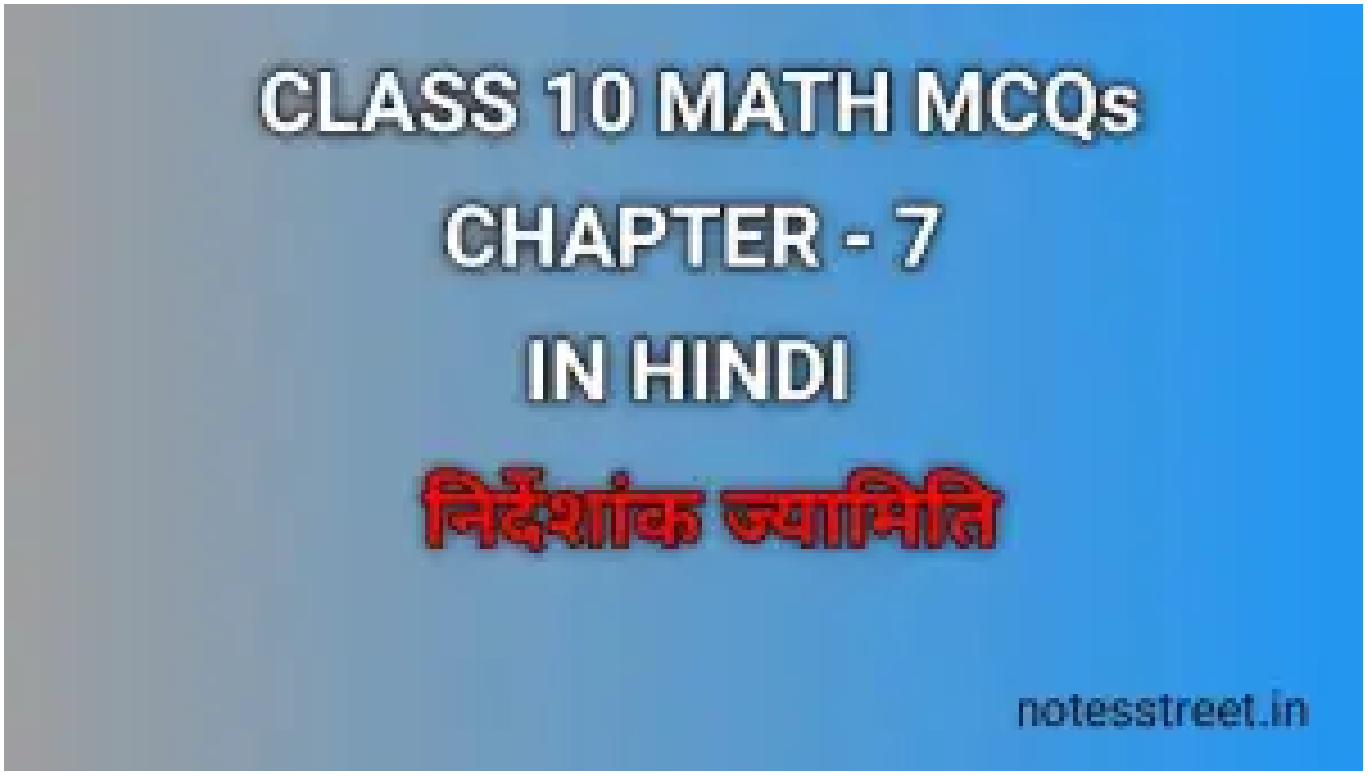

Class 10 Math MCQs Chapter 7 निर्देशांक जयामिती

July 24, 2021

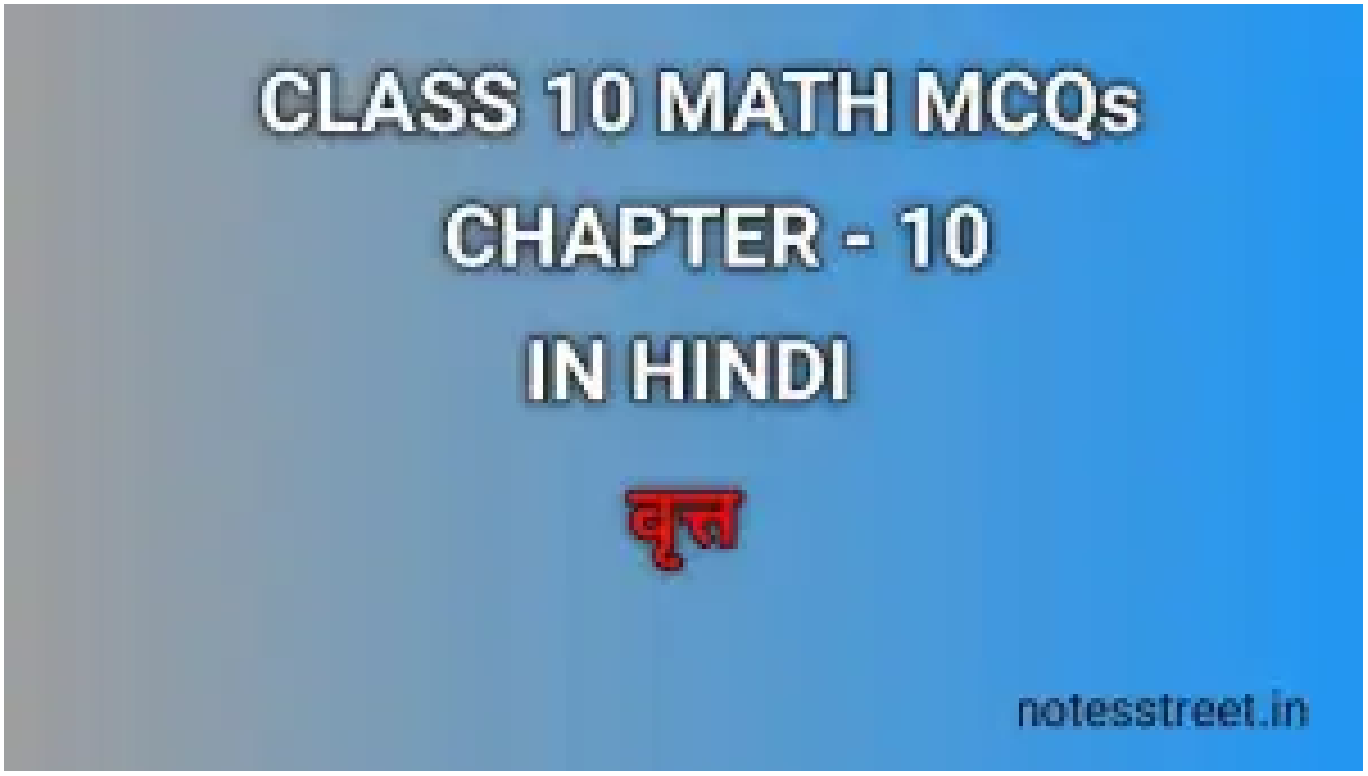

Class 10 Math MCQs Chapter 10 वृत्त

August 5, 2021