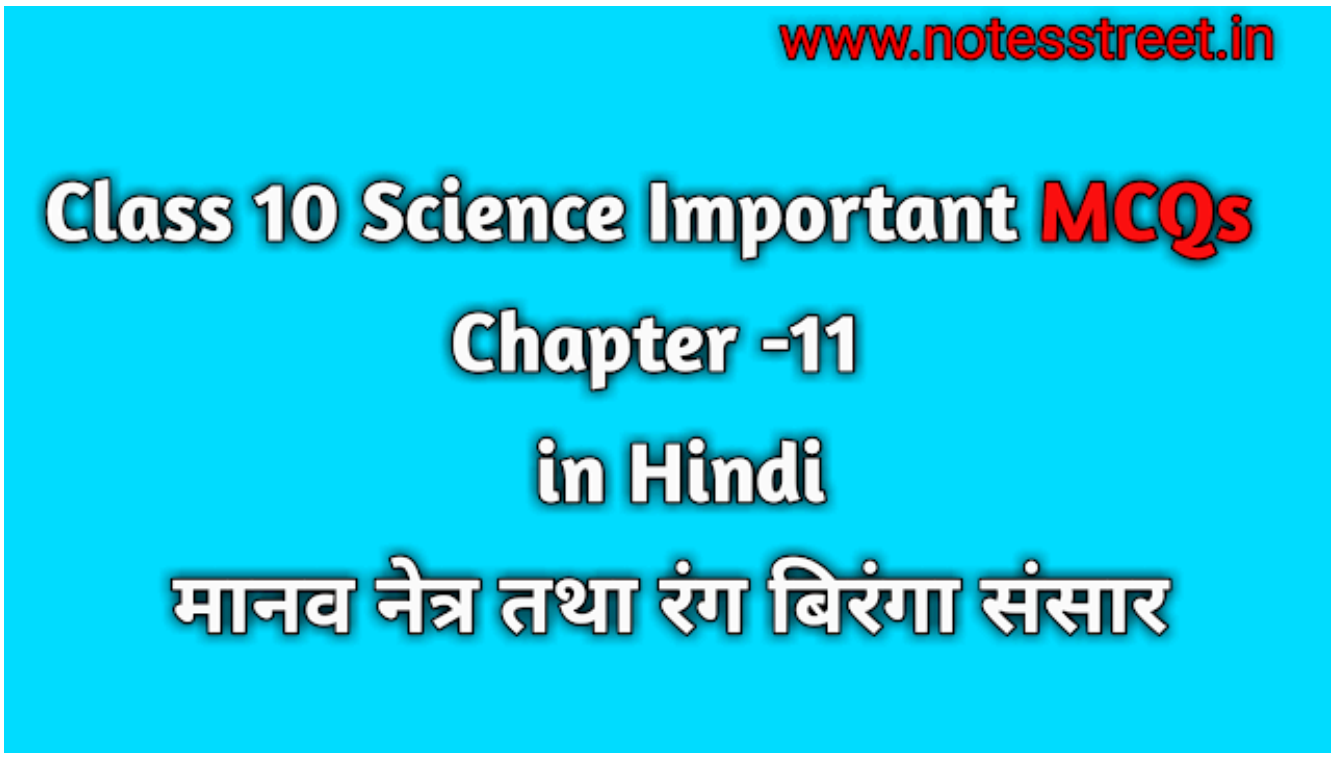

Class 10 Science Important MCQs Chapter -11 मानव नेत्र तथा रंग बिरंगा संसार

Class 10 Science V.V.I MCQs

Here we are providing **Class 10 Science Important MCQs** **Chapter – 11 मानव नेत्र तथा रंग बिरंगा संसार** because its very important for Class 10 students as we all know that every board exam question has MCQs so that students should practice these questions so that students can get good marks in board. Class 10 Science Important MCQs Chapter – 11 मानव नेत्र तथा रंग बिरंगा संसार is an extremely important and its also a year in which students learn the fundamentals of concepts that help them lay a solid foundation for their higher education. Here we are providing in Class 10 Science Important MCQs Chapter – 11 मानव नेत्र तथा रंग बिरंगा संसार 100+questions so that students practice more and more. If you want class 10 Science Notes Then **Click Here**

LIMITED TIME OFFER

Unlock Detailed Explanations 🔓

✓ Get Full Explanations for every question.

✓ Understand the 'Why' behind the answer.

✓ Instant access to the complete 243-page PDF.

This page only shows Q&A. For deep learning, get the full PDF.

BUY FULL PDF NOW

Class 10 Science Important MCQs Chapter – 11 मानव नेत्र तथा रंग बिरंगा संसार

1. प्रिज्म द्वारा उत्पन श्वेत प्रकाश के स्पेक्ट्रम में किस रंग की किरण का झुकाव अधिक है ?
(a) लाल
(b) हरा
(c) पीला
(d) बैंगनी
उत्तर – (d)

2. सामान्य दृष्टि के वयस्क के लिए स्पष्ट दर्शन की न्यूनतम दूरी होती है ?
(a) 25 cm
(b) 2.5 cm
(c) 25 m
(d) 2.5m
उत्तर – (a)

3. मानव नेत्र जिस भाग पर प्रतिबिंब बनाते हैं , वह है :
(a) कॉर्निया
(b) परितारिका
(c) पुतली
(d) दृष्टिपटल
उत्तर – (d)

4 . सामान्य नेत्र का दूर बिन्दु है ।
(a) 25 सेमी
(b) 25 मिलीमीटर
(c) 25 मीटर
(d) अनत पर
उत्तर – (d)

5. निम्न में से कौन रंग है जिसका खतरे के सिगनल में उपयोग होता है ?
(a) नीला रंग
(b) बैंगनी रंग

(c) लाल रंग
(d) पीला रंग
उत्तर – (c)

6. स्पेक्ट्रम प्राप्त करने के लिए निम्न में किसका उपयोग होता है
(a) काँच को सिल्ली
(b) अवतल दर्पण
(c) उत्तल लेंस
(d) प्रिज्म
उत्तर – (d)

7. मानव नेत्र में किस प्रकार का लेंस पाया जाता है ?
(a) उत्तल
(b) अवतल
(c) वलयाकार
(d) इनमें से कोई नहीं
उत्तर – (a)

8. दूर – दृष्टिवाली आँख साफ – साफ देख सकती हैं :
(a) दूर की वस्तुओं को
(b) निकट की वस्तुओं को
(c) बड़ी वस्तुओं को
(d) इनमें से कोई नहीं
उत्तर – (a)

9. आँख का व्यवहार होता है ,
(a) अवतल दर्पण की तरह
(b) उत्तल लेंस की तरह
(c) समतल दर्पण की तरह
(d) इनमें से कोई नहीं
उत्तर – (b)

10. निकट – दृष्टि दोष को दूर करने के लिए किस लेंस का व्यवहार होता है
(a) उत्तल
(b) अवतल
(c) समतल
(d) इनमें से सभी का
उत्तर – (b)

11. आँख की पुतली किस प्रकार कार्य करती है ?

(a) इकत्रिका की भाँति
(b) पुतली की भाँति
(c) परितारिका की भांति
(d) परिवर्ती द्वारक की भांति
उत्तर – (d)

12. श्वेत प्रकाश जब प्रिज्म से होकर गुजरती है , तो लाल रंग के प्रकाश का विचलन होता है :
(a) सबसे कम
(b) सबसे अधिक
(c) बैंगनी रंग के प्रकाश का ज्यादा
(d) इनमें से कोई नहीं
उत्तर – (a)

13. दीर्घ दृष्टि दोषवाले व्यक्ति के चश्में में लगा होता है ।
(a) अवतल लेंस
(b) बेलनाकार लेंस
(c) उत्तल लेंस
(d) इनमें से कोई नहीं
उत्तर – (c)

14. तेज प्रकाश में पुतली का आकार कैसा होता है ?
(a) छोटा
(b) बड़ा
(c) कोई परिवर्तन नहीं
(d) इनमें से कोई नहीं
उत्तर – (a)

15. मानव नेत्र में जो बिन्दु प्रकाश के लिए बिल्कुल सुग्राही नहीं होता है , उसे कहते हैं :
(a) अंध बिन्दु
(b) पीत – बिन्दु
(c) दूर बिन्दु
(d) निकट विन्दु
उत्तर – (a)

16. प्रकाश के किस रंग के लिए तरंगदैर्घ्य अधिकतम होता है ?
(a) बैंगनी
(b) हरा
(c) लाल
(d) पीला
उत्तर – (c)

17. आकाश नीला क्यों दिखता है ? क्योंकि :
(a) आकाश धुआँयुक्त है
(b) जलवाष्पयुक्त होता है
(c) धूल कणों और जलवाष्प से रहित होता है तथा नीले रंग के किरणों का प्रकीर्णन होता है
(d) इनमें से कोई नहीं
उत्तर – (c)

18. प्रिज्म से होकर गुजरनेवाली श्वेत प्रकाश को एक पर्दे पर लिया जाए तो रंग के बैंड को क्या कहते हैं ?
(a) स्पेक्ट्रम
(b) वर्ण – विन्यास
(c) बैजानीहपिनाला ।
(d) वर्णक्रम
उत्तर – (a)

19. इन्द्रधनुष किस प्रकार का स्पेक्ट्रम है ?
(a) प्राकृतिक
(b) कृत्रिम
(c) (a) और (b) दोनों
(d) इनमें से कोई नहीं
उत्तर – (a)

20. उदय और अस्त होते समय सूर्य कैसा दिखता है ?
(a) पीला
(b) लाल
(c) नीला
(d) काला
उत्तर – (b)

21. स्पेक्ट्रम के किस वर्ण का झुकाव न्यूनतम है ?
(a) नीला
(b) आसमानी
(c) पीला
(d) लाल
उत्तर – (d)

22. रेटिना पर किसी वस्तु का उल्टा तथा वास्तविक प्रतिबिंब किसके द्वारा बनता है ?
(a) परितारिका द्वारा
(b) पक्ष्माभि पेशियों द्वारा
(c) अभिनेत्र लेंस द्वारा

(d) काचाभ द्रव द्वारा

उत्तर – (c)

23. अत्यधिक ऊँचाई पर आकाश में वायुयान से सफर करने पर आकाश का रंग कैसा दिखता है ?

(a) काला

(b) लाल

(c) हरा

(d) नीला

उत्तर – (a)

24. अभिनेत्र लेंस की वक्रता में कुछ सीमाओं तक रूपान्तरण करने का जिम्मेवार है :

(a) परितारिका

(b) काचाभ द्रव

(c) पुतली

(d) पक्ष्माभि पेशियाँ

उत्तर – (d)

25. पुतली के साइज को नियंत्रण करनेवाला गहरा पेशिए डायफ्राम क्या कहलाता है ?

(a) परितारिका

(b) अभिनेत्र लेंस

(c) नेत्र – पटल

(d) रेटिना

उत्तर – (a)

26. नेत्र लेंस में समायोजन की क्रिया होती है

(a) आयरिस द्वारा

(b) नेत्र लेंस द्वारा

(c) सिलियरी पेशियों द्वारा

(d) कॉर्निया द्वारा

उत्तर – (c)

27. जब नजदीक की चीज को देखा जाता है , तो अभिनेत्र लेंस की वक्रता त्रिज्या में क्या परिवर्तन होता है ?

(a) फोकस दूरी बढ़ जाता है

(b) फोकस दूरी घट जाता है

(c) लेंस पतला हो जाता है

(d) कोई परिवर्तन नहीं होता है

उत्तर – (b)

28. जो नेत्र निकट की वस्तु को साफ नहीं देख सकता उस नेत्र में होता है

(a) दूर – दृष्टि दोष
(b) निकट – दृष्टि दोष
(c) जरा – दृष्टि दोष
(d) वांधता
उत्तर – (a)

29. जब वायुमंडल से होकर सूर्य प्रकाश गुजरता है तो आकाश का रंग नीला दिखता है क्योंकि :
(a) वायु के सूक्ष्म कण सूर्य – प्रकाश के बैंगनी रंग को तीव्रता से प्रकोर्णित करता है
(b) वायु के सूक्ष्म कण सूर्य – प्रकाश के नीले रंग को तीव्रता से प्रकीर्णित करता है
(c) वायु के सूक्ष्म कण सूर्य – प्रकाश के पीले रंग को प्रकीर्णित करता
(d) वायु के सूक्ष्म कण सूर्य – प्रकाश के लाल रंग को तेजी से प्रकीर्णित करता है
उत्तर – (b)

30. अभिनेत्र लेंस की वह क्षमता जिसके कारण वह अपनी फोकस दूरी को समायोजित कर लेता है ।
(a) समंजय कहलाता है
(b) लॅस मोटा हो जाता है
(c) लेंस पतला हो जाता है
(d) सिलियरी पेशियाँ सिकुड़ जाती है
उत्तर – (a)

31. किसी नेत्र का निकट – बिन्दु होता है
(a) 25 m
(b) 2.5 m
(c) 25cm
(d) 3m
उत्तर – (c)

32 . वास्तविक सूर्यास्त और आभासी सूर्यास्त के बीच लगभग कितने समय का अन्तर होता है ?
(a) 1 मिनट का
(b) 2 मिनट का
(c) 3 मिनट का
(d) 4 मिनट का
उत्तर – (b)

33. चलचित्र में निम्नलिखित में से किसकी उपयोग होता है ?
(a) समंजन
(b) दृष्टि निबंध
(c) सुस्पष्ट दृश्यता की अल्पतम दूरी
(d) द्विफोकस लेंस निकाय
उत्तर – (b)

34. निकट – दृष्टि दोष उत्पन्न होने का क्या कारण है ?
(a) अभिनेत्र लेंस की वक्रता का बढ़ना
(b) अभिनेत्र लेंस की वक्रता घटना
(c) नेत्र गोलक की लम्बाई का घटना
(d) इनमें से कोई नहीं
उत्तर – (a)

35. अगर प्रकीर्णन करनेवाले कणों का साइज काफी बड़ा हो , तो प्रकीर्णित प्रकाश
(a) श्वेत होगा
(b) नीला होगा
(c) नारंगी होगा
(d) लाल होगा
उत्तर – (a)

36. किसी प्रिज्म से होकर गुजरनेवाली प्रकाश के लिए आपतन कोण (i) और अपवर्तन कोण (r) हो , तो निर्गत कोण का मान क्या होगा ?
(a) $\angle r$ के बराबर
(b) $\angle r$ से छोटा
(c) $\angle i + \angle r$ के बराबर
(d) $\angle i$ के बराबर
उत्तर – (a)

37. सामान्य नेत्र की रेटिना पर बननेवाला प्रतिबिंब होता है
(a) आभासी और सीधा
(b) आभासी और उल्टा
(c) वास्तविक और उल्टा
(d) वास्तविक और सीधा
उत्तर – (c)

38. विद्युत सिग्नल किसके द्वारा मस्तिष्क तक पहुँचता है ?
(a) दृक् – तंत्रिकाओं द्वारा
(b) मांसपेशियों द्वारा
(c) काचाभ द्रव द्वारा
(d) सामान्य स्नायुओं द्वारा
उत्तर – (a)

39. कॉर्निया के पीछे एक संरचना होती है उसे कहते हैं :
(a) पुतली
(b) नेत्र पटल

(c) रेटिना
(d) परितारिका
उत्तर – (d)

40. तारों का टिमटिमाना वायु माध्यम के किस गुण पर निर्भर करता है ?
(a) ऊपर की अपेक्षा नीचे वायु का अपवर्तनांक अधिक होता है ।
(b) नीचे से ऊपर की ओर वायु अपवर्तनांक बढ़ता है ।
(c) वायु का अपवर्तनांक स्थिर रहता है ।
(d) इनमें से कोई नहीं
उत्तर – (a)

41. चूजे के दृष्टि – पटल में कौन – सी कोशिकाएँ नहीं होती है ?
(a) संशलाका कोशिकाएँ
(b) शंकु कोशिकाएँ
(c) (a) और (b) दोनों
(d) इनमें से कोई नहीं
उत्तर – (b)

42. सूर्य का श्वेत प्रकाश सात रंगों का मिश्रण है । प्रिज्म द्वारा इन रंगों के विभाजन को कहते हैं
(a) अवक्षेपण
(b) विक्षेपण
(c) परिक्षेपण
(d) इनमें कोई नहीं
उत्तर – (c)

43. नेत्र गोलक का व्यास होता है , लगभग :
(a) 2.3 cm
(b) 2 cm
(c) 3.5 cm
(d) 3 cm
उत्तर – (a)

44. किसी वस्तु का प्रतिबिम्ब आँख के जिस भाग पर बनता है , वह है :
(a) कॉर्निया
(b) रेटिना
(c) पुतली
(d) आइरिस
उत्तर – (b)

45. प्रिज्म से सूर्य के प्रकाश के गुजरने पर पर्दे पर सात रंग देखे जाते हैं , क्योंकि :

(a) प्रिज्म सात रंगों से निर्मित है
(b) सूर्य के प्रकाश में कोई रंग नहीं है
(c) सूर्य के श्वेत प्रकाश में सात रंग है ।
(d) इनमें से कोई नहीं
उत्तर – (c)

46. कभी – कभी कुछ व्याक्तयों के क्रिस्टलीय लेंस दुधिया एवं धुंधला हो जाता है । इस स्थिति को क्या कहा जाता है ?
(a) मोतियाबिंद
(b) अंधापन
(c) आँख की बीमारी
(d) दीर्घ – दृष्टि दोष
उत्तर – (a)

47. अभिनेत्र लेंस की फोकस दूरी में परिवर्तन किया जाता है :
(a) पुतली द्वारा
(b) दृष्टि – पटल द्वारा
(c) पक्ष्माभि द्वारा
(d) परितारिका द्वारा
उत्तर – (c)

48. प्रकीर्णत प्रकाश का वर्ण किस पर निर्भर करता है ?
(a) प्रकीर्णन करनेवाले कणों के स्वभाव पर
(b) प्रकीर्णन करनेवाले कणों के रासायनिक गुण पर
(c) प्रकीर्णन करनेवाले कणों के भौतिक गुण पर
(d) प्रकीर्णन करनेवाले कणों के साइज पर
उत्तर – (d)

49. किसी प्रिज्म से अपवर्तित प्रकाश – किरणें ।
(a) प्रिज्म के आधार के समांतर होती है
(b) पार्श्व पृष्ठों के समांतर होती है
(c) अभिलम्ब से दूर चली जाती है
(d) अभिलम्ब से 90 ° पर झुक जाती है ।
उत्तर – (a)

50. सूर्योदय और सूर्यास्त के समय सूर्य का गोला दिखता है :
(a) गोलाकार
(b) अण्डाकार
(c) चिपटा
(d) घनाकार

उत्तर – (c)

51. किसी प्रिय में आपतित किरण की दिशा और निर्गत किरण की दिशा के बीच के कोण को कहते हैं
(a) निर्गत कोण
(b) अपवर्तन कोण
(c) विचलन कोण
(d) आपतन कोण
उत्तर – (c)

52. आँख में प्रवेश करनेवाले प्रकाश की मात्रा को नियंत्रित करता है
(a) परितारिका
(b) पक्ष्माभि पेशियाँ
(c) पुतली
(d) लेंस
उत्तर – (a)

53. घने जंगल से होकर सूर्य का प्रकाश – पुंज गुजरता है , तो वायुमंडलं प्रकाश को प्रकीर्णित करता है । इस प्रभाव को क्या कहते हैं ?
(a) प्रकाश का विसरण
(b) प्रकाश का विक्षेपण
(c) टिंडला प्रभाव
(d) इनमें से कोई नहीं
उत्तर – (c)

54. स्पेक्ट्रम के किस रंग का झुकाव सबसे अधिक होता है ?
(a) लाल
(b) नीला
(c) बैंगनी
(d) हरा
उत्तर – (c)

LIMITED TIME OFFER

Unlock Detailed Explanations 🔓

✓ Get Full Explanations for every question.

✓ Understand the 'Why' behind the answer.

✓ Instant access to the complete 243-page PDF.

This page only shows Q&A. For deep learning, get the full PDF.

BUY FULL PDF NOW

55. द्वितीयक इन्द्रधनुष में पानी के बूंद के अन्दर कितने आन्तरिक परावर्तन होती है
(a) एक
(b) दो
(c) तीन
(d) चार
उत्तर – (b)

56. निकट दृष्टि दोषवाले व्यक्ति के चश्मे में लगा होता है ।
(a) उत्तल लेंस
(b) अवतल लेंस
(c बेलनाकार लेंस
(d) इनमें से कोई नहीं
उत्तर – (b)

57. जरा – दूरदर्शिता क्यों होता है ? क्योंकि :
(a) नेत्र की समंजन क्षमता घट जाती है
(b) पक्ष्माभि पेशियाँ धीरे – धीरे जाती है
(c) नेत्र लेंस का लचीलापन बढ़ने लगता है
(d) सभी कथन सत्य है
उत्तर – (a)

58. किसी प्रिज्म के दो पाट्य पृष्ठों के बीच के कोपा को कहते हैं :
(a) विचलन कोण
(b) प्रिज्म कोण
(c) अपवर्तन कोण
(d) निर्गत कोण
उत्तर – (b)

59. दीर्घ – दृष्टि दोष होने का क्या कारण है ?
(a) नेत्र गोलक का बड़ा हो जाना
(b) अभिनेत्र लेंस के वक्रता का घटना
(c) अभिनेत्र लेस के फोकस दूरी का अत्यधिक हो जाना
(d) अभिनेत्र लेंस के फोकस – दूरी का होना
उत्तर – (d)

60. जब पानी के बूंदों के भीतर एक ही पूर्ण आन्तरिक परावर्तन होता है तो ऐसे इन्द्रधनुष को कहा जाता है :

(a) प्राथमिक

(b) द्वितीयक

(c) (a) और (b) दोनों

(d) इनमें से कोई नहीं

उत्तर – (a)

61. कांच का अपवर्तनांक किस वर्ण के लिए अधिकतम है ?

(a) लाल

(b) पीला

(c) बैगनी

(d) आसमानी

उत्तर – (c)

62. कांच का अपवर्तनांक किस वर्ण के लिए न्यूनतम होता है :

(a) बैंगनी

(b) लाल

(c) पीला

(d) हस

उत्तर – (b)

63. एक प्रिज्म सूर्य के श्वेत प्रकाश को सात रंगों में विभक्त करता है अगर दूसरा प्रिज्म को उलट कर इन सात रंगों को गुजरने दिया जाए तो कैसा रंग प्राप्त होगा ?

(a) पीला

(b) लाल

(c) श्वेत

(d) बैंगनी

उत्तर – (c)

64. श्वेत प्रकाश किसी वस्तु पर जब पड़ता है वस्तु लाल वर्ण में प्रकाश को परावर्तित करता है तो उस वस्तु का वर्ण होगा

(a) बैगनी

(b) लाल

(c) पीला

(d) आसमानी

उत्तर – (b)

65. नीले वर्ण को प्रकाश से हरे वर्ण की वस्तु को प्रदीप्त करने पर यह वस्तु कैसा दिखेगा ?

(a) हरा
(b) काला
(c) नीला
(d) पीला
उत्तर – (b)

66. पेड़ की पत्तियाँ हरे वर्ण की दीखती है क्योंकि यह परावर्तित करता
(a) हरे वर्ण को
(b) लाल वर्ण को
(c) पीले वर्ण को
(d) इनमें से कोई नहीं
उत्तर – (a)

67. लाल गुलाब को हरे प्रकाश में देखा जाए तो वह कैसा प्रतीत होगा ?
(a) पीला
(b) बैंगनी
(c) काला
(d) नीला
उत्तर – (c)

68. प्रकाश का प्राथमिक वर्ण कौन है ?
(a) लाल
(b) हरा
(c) नीला
(d) (a) , (b) . (c) तीनों
उत्तर – (d)

79. नीला तथा हरा प्रकाश के मिलने पर किस वर्ण का प्रकाश प्राप्त होता है ?
(a) हरा
(b) स्थान
(c) पीला
(d) काला
उत्तर – (b)

70 . लाल तथा नीले वर्ण के प्रकाश के मिलने पर किस वर्ण का प्रकाश प्राप्त होता है ?
(a) मैजेंटा
(b) लाल
(c) नीला
(d) पीला
उत्तर – (a)

71. लाल तथा हरे वों के प्रकाश के मिलने पर किस वर्ण का प्रकाश प्राप्त होता है ?
(a) लाल
(b) हरा
(c) पीला
(d) काला
उत्तर – (c)

72. जब प्रकाश अत्यन्त चमकीला होता है तो पुतली है
(a) बड़ी बन जाती है
(b) सामान्य रहती है
(c) छोटी बन जाती है
(d) इनमें से कोई नहीं
उत्तर – (c)

73. मंद प्रकाश में किसकी शिथिलता से पुतली पूर्णरूप से फैल जाती
(a) कॉर्निया
(b) परिततारिका
(c) एरिस
(d) इनमें से कोई नहीं
उत्तर – (b)

74. अभिनेत्र लेंस की वक्रता में परिवर्तन किसके द्वारा होती है ?
(a) एरिस द्वारा
(b) परिवारिका द्वारा
(c) पक्ष्माभि पेशियों द्वारा
(d) इनमें से कोई नहीं
उत्तर – (c)

75. पेशियों के शिथिल होने पर अभिनेत्र लेंस की फोकस दूरी होती है
(a) 3.5 cm
(b) 2.5 cm
(c) 4.2 cm
(d) 2.7 cm
उत्तर – (b)

76 . जब नजदीक की वस्तुओं को देखते हैं तो पक्ष्यामि पेशियाँ सिकुड़ जाती हैं और नेत्र का आकार हो जाता है
(a) लम्बा
(b) पतला

(c) गोला
(d) कोई नहीं
उत्तर – (c)

77. वस्तु को हटा लेने के बाद भी नेत्र पटल पर प्रतिविम्ब कितने सेकेण्ड तक रहता है ?
(a) 1/10 सेकेण्ड तक
(b) 1/20 सेकेण्ड तक
(c) 1/16 सेकेण्ड तक
(d) 1/5 सेकण्ड तक
उत्तर – (c)

78. दृष्टि निबंध सिद्धान्त का उपयोग कहाँ किया जाता है ?
(a) चलचित्र प्रक्षेपण में
(b) फोटोग्राफी कैमरे में
(c) सूक्ष्मदर्शी में
(d) इनमें से कोई नहीं
उत्तर – (a)

79. पराबैगनी प्रकाश में किसी वस्तु को देखना
(a) कठिन है
(b) आसान है
(c) (a) और (b) दोनों
(d) इनमें से कोई नहीं
उत्तर – (a)

80. स्वस्थ नेत्र के लिए 25 cm और अनंत के बीच की दूरी को क्या कहते हैं ?
(a) दृष्टि परिसर
(b) अनंत विन्दु परिसर
(c) निकट बिन्दु परिसर
(d) इनमें से कोई नहीं
उत्तर – (b)

81. अतिसूक्ष्म कण ' किस तरह के प्रकाश को प्रकीर्ण करते हैं ?
(a) लाल
(b) पीला
(c) नीला
(d) बैगनी
उत्तर – (c)

82. एक स्वस्थ आँख के लिए स्पष्ट दृष्टि की अधिकतम दूरी-

(a) 25 सेमी
(b) शून्य
(c) 250 सेमी
(d) अनन्त
उत्तर – (d)

83. मानव नेत्र अभिनेत्र लेंस की फोकस दूरी को समायोजित करके विभिन्न दूरियों पर रखी वस्तुओं को फोकसित कर सकता है, ऐसा हो पाने का कारण है।
(a) जरा-दूरदृष्टिता
(b) समंजन क्षमत
(c) निकट दृष्टि
(d) दीर्घ दृष्टि
उत्तर – (b)

84. सामान्य नेत्र (आँख) की रेटिना पर बननेवाला प्रतिबिंब होता है-
(a) आभासी और सीधा
(b) वास्तविक और सीधा
(c) वास्तविक और उल्टा
(d) आभासी और उल्टा
उत्तर – (c)

85. पुतली के साइज को नियंत्रित करने वाला गहरा पेशीय डायफ्राम क्या कहलाता है?
(a) परितारिका
(b) अभिनेत्र लेंस
(c) नेत्र पटल
(d) रेटिना
उत्तर – (a)

86. कॉर्निया के पीछे एक संरचना होती है उसे-
(a) पुतली कहते हैं
(b) नेत्र पटल कहते हैं
(c) रेटिना कहते हैं
(d) परितारिका कहते हैं
उत्तर – (d)

87. नेत्र में प्रवेश करने वाले प्रकाश किरणों काअधिकांश अपवर्तन होता है
(a) नेत्रोद अंतर पृष्ठ पर
(b) अभिनेत्र के अंतरपृष्ठ पर
(c) कॉर्निया के बाहरी पृष्ठ पर
(d) इनमें से कोई नहीं

उत्तर – (c)

88. किस दृष्टि दोष को अवतल और उत्तल दोनों लेंसों से बने द्विफोकसी लेंस द्वारा संशोधित किया जा सकता है?
(a) निकट-दृष्टि दोष
(b) दीर्घ-दृष्टि दोष
(c) जरा-दूर दृष्टिता
(d) मोतियाबिंद
उत्तर – (c)

89. पटल एक कोमल सूक्ष्म झिल्ली होती है जिसमें विशाल संख्याओं में किस प्रकार की कोशिकाएँ पायी जाती हैं?
(a) प्रकाश-सुग्राही
(b) सामान्य कोशिकाएँ
(c) (a) एवं (b) दोनों
(d) इनमें से कोई नहीं
उत्तर – (a)

90. नेत्र गोलक के गोल होने पर देख पाते हैं।
(a) निकट की वस्तुओं को
(b) दूर की वस्तुओं को
(c) 25 cm की दूरी पर की वस्तुओं को
(d) इनमें से कोई नहीं
उत्तर – (a)

91. कॉर्निया के पीछे क्या है जो काले रंग की पेशियों का समुच्चय है-
(a) परितारिका
(b) नेत्र पटल
(c) दृष्टि पटल
(d) इनमें से कोई नहीं
उत्तर – (a)

92. आयु में वृद्धि होने पर मानव नेत्र में समंजनक्षमता घट जाती है यह दोष कहलाती है।
(a) अबिंदुकता
(b) दीर्घ दृष्टिदोष
(c) लघु दृष्टिदोष
(d) जरादृष्टिदोष
उत्तर – (d)

93.कॉर्निया में दोष अर्थात् उसके पूर्णतः गोलीय होने के कारण किस प्रकार का नेत्र दोष होता है?

(a) अबिंदुकता
(b) दीर्घ दृष्टिदोष
(c) जरा दृष्टिदोष
(d) लघु दृष्टिदोष
उत्तर – (a)

94.अबिन्दुकता नेत्र दोष वाले व्यक्ति के चश्मे मेंकिस तरह के लेंस से दोष का निवारण होता है?
(a) अवतल लेंस,
(b) बेलनाकार लेंस
(c) उत्तल लेंस
(d) द्विफोकसी लेंस
उत्तर – (b)

95. दोष रहित नेत्र 25 cm और अनंत के बीच रखी वस्तु को आसानी से देख पाता है, इसके बीच की दूरी को कहते हैं-
(a) दृष्टि परिसर
(b) अनंत बिन्दु परिसर
(c) निकट बिन्दु परिसर
(d) कोई नहीं
उत्तर – (a)

96. मानव नेत्र दो हैं अतः इनका दृष्टि क्षेत्र होगा
(a) 180°
(b) 150°
(c) 160°
(d) 120°
उत्तर – (a)

97. शिकार करने वाले जंतुओं के दो नेत्र उनके सिर पर विपरीत दिशाओं में स्थित होते हैं अतः इनका दृष्टि क्षेत्र होता है।
(a) न्यूनतम
(b) अधिकतम
(c) सामान्य
(d) इनमें से कोई नहीं
उत्तर – (b)

98. सामान्य दृष्टि के वयस्क के लिए सुस्पष्ट दर्शनकी न्यूनतम दूरी होती है, लगभग
(a) 25m
(b) 2.5cm
(c) 25cm

(d) 2.5m

उत्तर – (c)

99. किस लेंस का उपयोग कर दीर्घदृष्टि दोष को संशोधित किया जा सकता है?

(a) अवतल लेंस

(b) उत्तल लेंस

(c) कभी अवतल लेंस और कभी उत्तल लेंस

(d) बेलनाकार लेंस

उत्तर – (b)

100. एक नेत्र वाले व्यक्ति का दृष्टि क्षेत्र होगा-

(a) 140°

(b) 180°

(c) 150°

(d) इनमें से कोई नहीं

उत्तर – (c)

101. एक नेत्र वाले व्यक्ति को सारा संसार कैसादीखता है?

(a) द्विविमीय चपटा

(b) त्रिविमीय गोल

(c) (a) और (b) दोनों

(d) इनमें से कोई नहीं

उत्तर – (a)

102. हमारे दो आँख सिर पर स्थित हैं अतः हमें वस्तु दिखता है-

(a) द्विविमीय

(b) त्रिविमीय

(c) (a) और (b) दोनों

(d) इनमें से कोई नहीं

उत्तर – (b)

103. रेटिना प्रकाश को परिवर्तित करता है।

(a) विद्युत ऊर्जा में

(b) विद्युत सिगनल में

(c) वास्तविक प्रतिबिम्ब में

(d) इनमें से कोई नहीं

उत्तर – (b)

104. नेत्र दान करने वाले व्यक्ति की आयु सीमा होगी।

(a) 10 वर्ष
(b) 25 वर्ष
(c) 60 वर्ष
(d) इनमें से सभी
उत्तर – (d)

105. मृत्यु के पश्चात् कितने घंटे के अंदर नेत्रनिकाल लेना चाहिए?
(a) 2 से 3 घंटे के भीतर
(b) 4 से 6 घंटे के भीतर
(c) 8 से 10 घंटे के भीतर
(d) 10 से 12 घंटे के भीतर
उत्तर – (b)

106. इनमें से कौन व्यक्ति नेत्र दान कर सकता है?
(a) संक्रामक रोग से पीड़ित
(b) मधुमेह का रोगी
(c) दमे का रोगी
(d) (b) एवं (c) दोनों
उत्तर – (d)

107. निम्न में से कौन ऐसे व्यक्ति हैं जो नेत्रदान नहीं कर सकते हैं?
(a) एड्स से पीड़ित
(b) दमे से पीड़ित
(c) मधुमेह से पीड़ित
(d) चश्मा पहनने वाले व्यक्ति
उत्तर – (a)

108. विकासशील देशों में कितने करोड़ व्यक्ति दृष्टिहीन हैं?
(a) 4 करोड़
(b) 5 करोड़
(c) 3.5 करोड़
(d) 10 करोड़
उत्तर – (c)

109. श्वेत प्रकाश जब प्रिज्म से होकर गुजरता है, तो जो रंग सबसे अधिक विचलित होता है, वह है–
(a) लाल
(b) पीला
(c) बैंगनी
(d) नीला
उत्तर – (c)

110. प्रकाश एक पतली झिल्ली से होकर नेत्र में प्रवेश करता है। इस झिल्ली को कहते हैं
(a) नेत्र पटल
(b) कॉर्निया
(c) परितारिका
(d) पुतली
उत्तर – (b)

111. प्रिज्म से होकर सूर्य का श्वेत प्रकाश गुजरने पर श्वेत प्रकाश सात रंगों में विच्छेदित हो जाता है। इसमें लाल रंग के प्रकाश का विचलन-
(a) बैंगनी प्रकाश से कम है
(b) हरे प्रकाश से कम है
(c) आसमानी से कम है
(d) सभी रंगों से कम है
उत्तर – (d)

112. किसी कोलायडी विलयन से प्रकाश पुंज गुजरने पर यह कैसा दिखता है?
(a) प्रकाश पुंज का मार्ग दिखाई देता है
(b) प्रकाश पुंज का मार्ग नहीं दिखाई पड़ता
(c) प्रकाश पुंज का मार्ग धुंधला दिखाई पड़ता है
(d) दिया गया कथन, सत्य है
उत्तर – (a)

113. वायुमंडल के सबसे ऊपरी परत में अंधेरा मालूम पड़ता है क्योंकि
(a) धूलकणों की कमी से सूर्य प्रकाश का प्रकीर्णन नहीं हो पाता है
(b) ऊपर का वायु काफी हल्का होता
(c) सूर्य की किरणें उस क्षेत्र तक नहीं पहुँच पाती हैं
(d) इनमें से कोई नहीं
उत्तर – (a)

114. किसी अंतरिक्ष यात्री को आकाश कैसा प्रतीत होता है?
(a) काला
(b) नीला
(c) लाल
(d) इनमें से कोई नहीं
उत्तर – (a)

115. जब प्रकाश वायु के कणों पर पड़ता है तो कणों के आवेश कंपन करने लगता है और कंपन से प्रकाश उत्पन्न होता है और सभी दिशाओं में फैलने लगता है। इस घटना को क्या कहते हैं?
(a) प्रकीर्णन

(b) विकिरण
(c) प्रकाश का विक्षेपण
(d) इनमें से कोई नहीं
उत्तर – (a)

116.दूध और शुद्ध पानी से लेजर लेजरबीम(किरणपुंज) गुजरने पर
(a) शुद्ध पानी में प्रकीर्णन होता है
(b) दूध में प्रकीर्णन होता है क्योंकि इसमें कोलायडी कण है
(c) 'क' और 'ख' दोनों
(d) इनमें से कोई नहीं
उत्तर – (b)

117. किस वर्ण (रंग) का तरंगदैर्घ्य सबसे बड़ा है?
(a) लाल
(b) नीला
(c) पीला
(d) बैंगनी
उत्तर – (a)

118. काँच का अपवर्तनांक विभिन्न वर्गों के प्रकाशके लिए-
(a) भिन्न-भिन्न होता है
(b) समान होता है
(c) (a) एवं (b) दोनों
(d) इनमें से कोई नहीं
उत्तर – (a)

119. काँच का अपवर्तनांक किस वर्ण के लिए अधिकतम है?
(a) लाल
(b) पीला
(c) बैंगनी
(d) आसमानी
उत्तर – (c)

120. एक प्रिज्म सूर्य के श्वेत प्रकाश को सात रंगोंमें विभक्त करता है, अगर दूसरा प्रिज्म उलटकर इन सात रंगों को गुजरने दिया जाए तो कैसा रंग प्राप्त होगा?
(a) पीला
(b) लाल
(c) श्वेत
(d) बैंगनी
उत्तर – (c)

121. प्रिज्म से श्वेत प्रकाश गुजरने पर सात रंगों मेंविभक्त होकर अलग-अलग दिखलाता है क्योंकि इनके अलग-अलग

(a) तरंगदैर्घ्य हैं

(b) एक ही तरंगदैर्घ्य है

(c) इनकी ऊर्जा समान है

(d) इनमें से कोई नहीं

उत्तर – (a)

122. नीले वर्ण की प्रकाश से हरे वर्ण की वस्तु कोप्रदीप्त करने पर यह वस्तु कैसा दिखेगा?

(a) हरा

(b) काला

(d) पीला

(c) नीला

उत्तर – (b)

123. प्रकाश का प्राथमिक वर्ण कौन है?

(a) लाल

(b) नीला

(c) हरा

(d) (a), (b) एवं (c) तीनों

उत्तर – (d)

124. तीनों प्राथमिक वर्णों को उचित अनुपात मेंमिलाने पर श्वेत प्रकाश बनते हैं और इनमें से एक प्राथमिक वर्ण को घटाने पर प्राप्त वर्ण कहलाते हैं-

(a) मिश्र वर्ण

(b) मैजेंटा, स्यान तथा नीला

(c) (a) एवं (b)

(d) इनमें से कोई नहीं

उत्तर – (c)

125. मोटर वाहन चलाने के लिए ड्राइविंग लाइसेंस निम्न में किन व्यक्तियों को दिया जाता है?

(a) जो वाँध हैं

(b) जो वर्णांध नहीं है?

(c) (a) एवं (b) दोनों

(d) इनमें से कोई नहीं

उत्तर – (b)

126.पराबैंगनी प्रकाश (तरंगदैर्घ्य अत्यन्त कम) में वस्तुओं को देखना-

(a) कठिन है

(b) आसान है
(c) (a) और (b) दोनों
(d) इनमें से कोई नहीं
उत्तर – (a)

127. लेंस सूत्र क्षमता के पदों में होगा
(a) p=1/f=1/v-1/u
(b) p=1/f=1/u-1/v
(c) p=1/f=1/u-1/c
(d) इनमें से कोई नहीं
उत्तर – (a)

128. कोलॉइडी कणों द्वारा प्रकाश के प्रकीर्णन को कहा जाता है
(a) टिंडल प्रभाव
(b) क्रिण्टल प्रभाव
(c) (a) एवं (b) दोनों
(d) कोई नहीं
उत्तर – (a)

129. अति सूक्ष्म कण किस तरह के प्रकाश को प्रकीर्ण करते हैं?
(a) लाल
(b) पीला
(c) नीला
(d) बैंगनी
उत्तर – (c)

130. वास्तविक सूर्यास्त और आभासी सूर्यास्त के बीच लगभग कितने समय का अंतर होता है?
(a) 1 मिनट
(b) 2 मिनट
(c) 3 मिनट
(d) 4 मिनट
उत्तर – (b)

131.टिंडल प्रभाव प्रकाश की कौन-सी परिघटना प्रदर्शित करता है?
(a) प्रकाश का परावर्तन
(b) प्रकाश का अपवर्तन
(c) प्रकाश का विक्षेपण
(d) प्रकाश का प्रकीर्णन
उत्तर – (d)

132. जब वायुमंडल से होकर सूर्य का प्रकाश गुजरता है तो आकाश का रंग नीला दिखता है क्योंकि
(a) वायु के सूक्ष्म कण बैंगनी रंग की अपेक्षा हरे रंग को अधिक प्रबलता से प्रकीर्ण करते हैं
(b) वायु के सूक्ष्म कण लाल रंग की अपेक्षा नीले रंग को अधिक प्रबलता से प्रकीर्ण करता है
(c) वायु के सूक्ष्म कण नारंगी रंग की अपेक्षा पीले रंग को अधिक प्रबलता से प्रकीर्ण करता है
(d) वायु के सूक्ष्म कण जामुनी रंग की अपेक्षा लाल रंग को अधिक प्रबलता से प्रकीर्ण करता है
उत्तर – (b)

133. स्पेक्ट्रम प्राप्त करने के लिए किसका उपयोगहोता है?
(a) काँच की सिल्ली
(b) अवतल दर्पण
(c) उत्तल लेंस
(d) प्रिज्म
उत्तर – (d)

134. आकाश नीला क्यों दिखता है, क्योंकि
(a) आकाश धुआँयुक्त होता है
(b) जलवाष्प युक्त होता है
(c) धूलकणों और जलवाष्प से रहित होता है
(d) इनमें से कोई उत्तर सही नहीं है
उत्तर – (c)

135. यदि प्रकीर्णन करने वाले कणों के साइज बहुत अधिक है, तो प्रकीर्णित प्रकाश होगा-
(b) पीला
(a) श्वेत
(c) हरा
(d) लाल
उत्तर – (a)

136. काँच प्रिज्म द्वारा उत्पन्न श्वेत प्रकाश के स्पेक्ट्रम में किस रंग की किरण का झुकाव अधिक है?
(a) लाल
(b) हरा
(c) पीला
(d) बैंगनी
उत्तर – (d)

LIMITED TIME OFFER

Unlock Detailed Explanations 🔓

✓ Get Full Explanations for every question.

✓ Understand the 'Why' behind the answer.

✓ Instant access to the complete 243-page PDF.

This page only shows Q&A. For deep learning, get the full PDF.

BUY FULL PDF NOW

Class 10 Science Important MCQs In Hindi All Chapters

CHAPTER NO	CHAPTER NAME
1	रासायनिक अभिक्रियाएँ और समीकरण
2	अम्ल, क्षार एवं लवण
3	धातु और अधातु
4	कार्बन और इसके यौगिक
5	तत्वों के आवर्त वर्गीकरण
6	जैव-प्रक्रम
7	नियंत्रण एवं समन्वय
8	जीव जनन कैसे करते है
9	अनुवांशिकता एवं जैव विकास
10	प्रकाश-परावर्तन एवं अपवर्तन
11	मानव-नेत्र एवं रंगबिरंगी दुनियाँ
12	विद्युत
13	विद्युत धारा का चुम्बकीय प्रभाव
14	उर्जा के स्रोत
15	हमारा पर्यावरण
16	प्राकृतिक संसाधनों का प्रबंधन

PLEASE SHARE THIS

YOU MIGHT ALSO LIKE

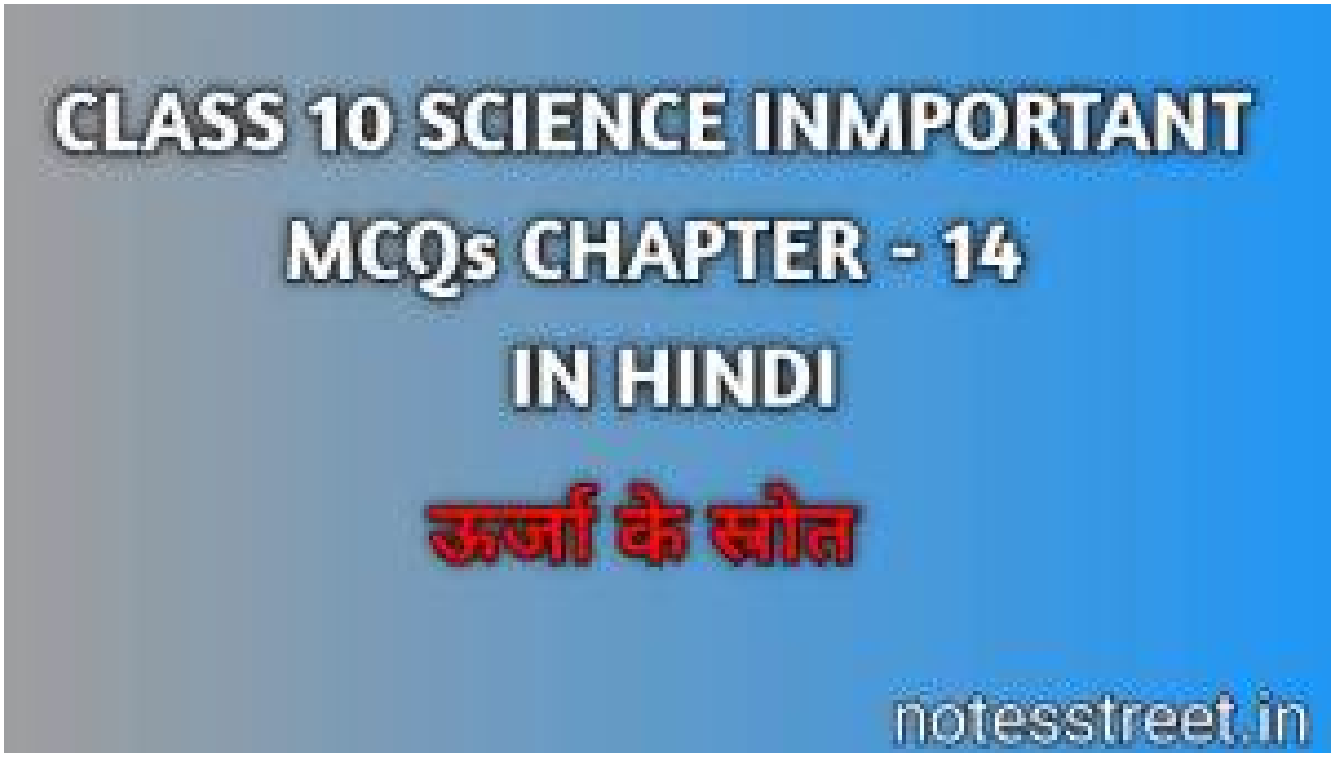

Class 10 Science Important MCQs Chapter – 14 ऊर्जा के स्रोत

October 30, 2020

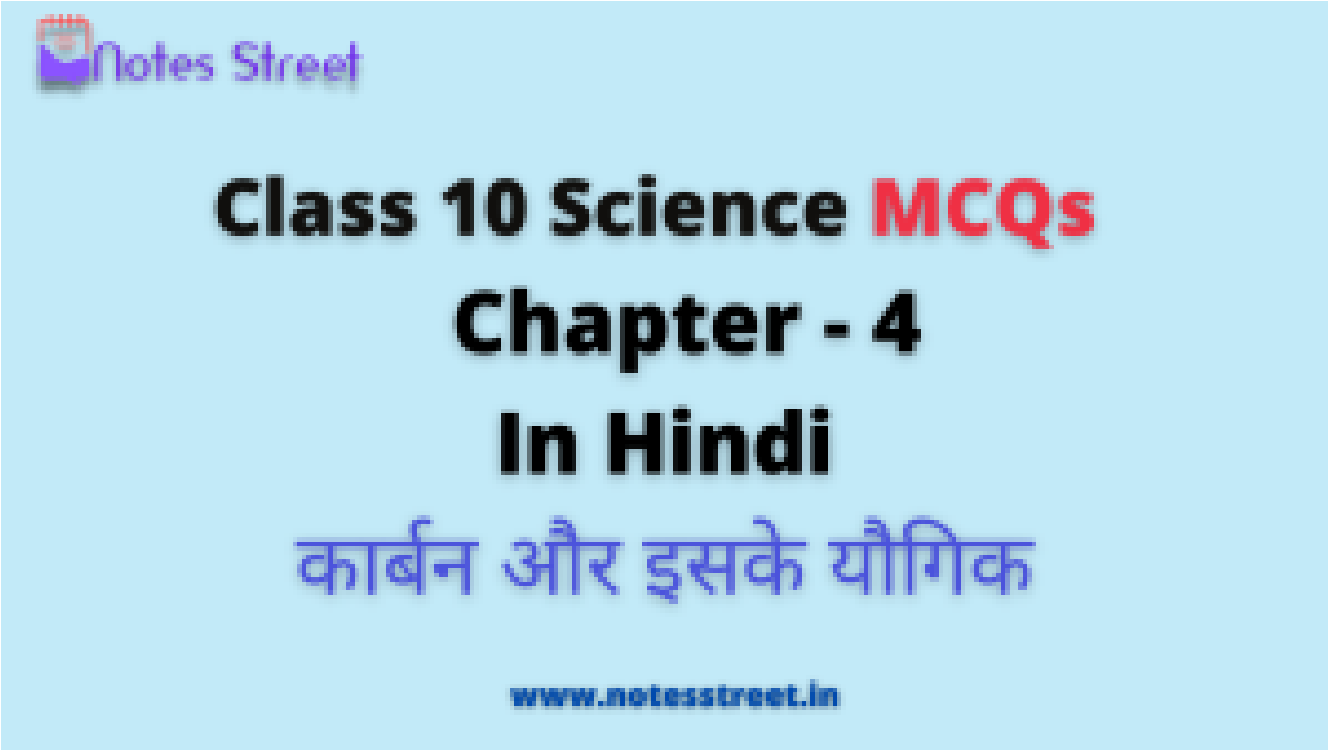

Class 10 Science Important MCQs Chapter – 4 कार्बन और इसके यौगिक

July 15, 2020

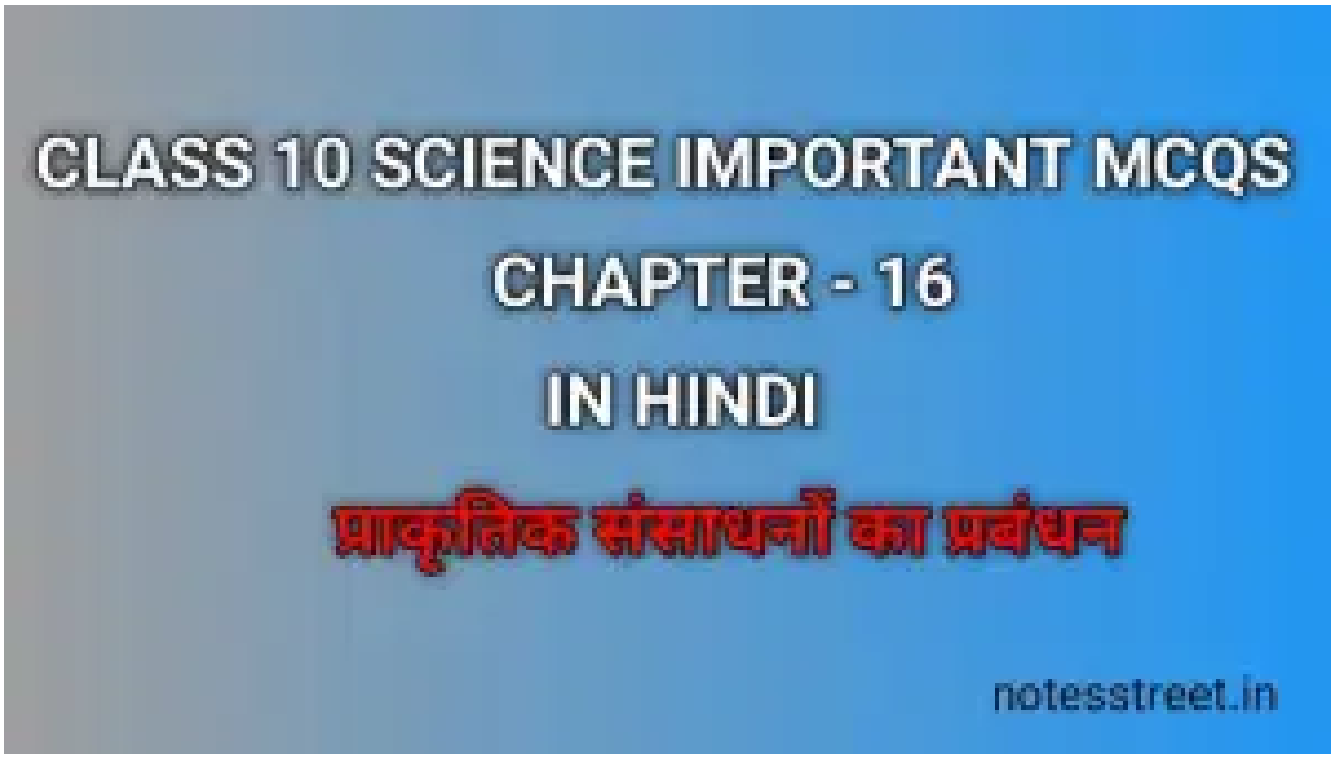

Class 10 Science Important MCQs Chapter – 16 प्राकृतिक संसाधनों का प्रबंधन

June 11, 2021