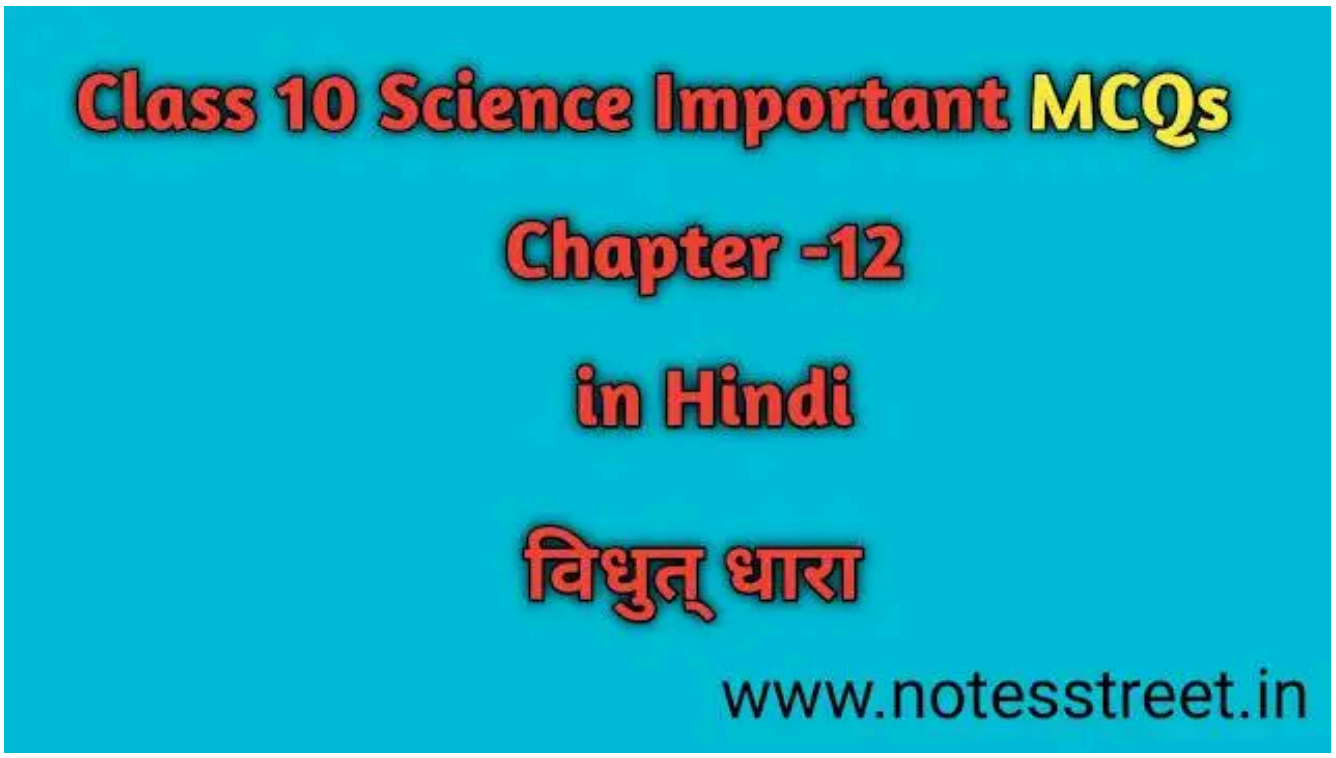

Class 10 Science Important MCQs Chapter -12 विधुत धारा

Class 10 Science V.V.I MCQs

Here we are providing **Class 10 Science Important MCQs Chapter – 12 विधुत धारा** because its very important for Class 10 students as we all know that every board exam question has MCQs so that students should practice these questions so that students can get good marks in board. Class 10 Science Important MCQs Chapter – 12 विधुत धारा is an extremely important and its also a year in which students learn the fundamentals of concepts that help them lay a solid foundation for their higher education. Here we are providing in Class 10 Science Important MCQs Chapter – 12 विधुत धारा 100+questions so that students practice more and more. If you want class 10 Science Notes Then **Click Here**

LIMITED TIME OFFER

Unlock Detailed Explanations 🔓

✓ Get Full Explanations for every question.

✓ Understand the 'Why' behind the answer.

✓ Instant access to the complete 243-page PDF.

This page only shows Q&A. For deep learning, get the full PDF.

BUY FULL PDF NOW

Class 10 Science Important MCQs Chapter – 12 विधुत धारा

1. विधुत प्रतिरोधकता निर्भर करता है
(a) चालक की लम्बाई पर
(b) चालक के अनुप्रस्थ प्रतिच्छेद के क्षेत्रफल पर
(c) चालक की प्रकृति पर
(d) इनमें से कोई नहीं
उत्तर – (c)

2. विद्युत शक्ति का SI मात्रक है
(a) वाट
(b) वाट – घंटा
(c) यूनिट
(d) ओम
उत्तर – (a)

3. ऊजा का SI मात्रक होता है
(a) कैलोरी
(b) जूल
(c) ताप
(d) इनमें से कोई नहीं
उत्तर – (b)

4. निम्न में से किसका अर्थ जल होता है
(a) पेट्रो
(b) हरबो
(c) नाइट्रो
(d) हाइड्रो
उत्तर – (d)

5. ताप बढ़ने पर चालक का प्रतिरोध –
(a) बढ़ता है
(b) घटता है
(c) सामान्य रहता है
(d) इनमें से कोई नहीं
उत्तर – (a)

6. विद्युत धारा का SI मात्रक है
(a) वोल्ट
(b) कुलॉम
(c) वाट
(d) एम्पियर
उत्तर – (d)

7 . एक विद्युत बल्ब पर 220 – 100W लिखा है इसमें फिलामेंट प्रतिरोध होगा
(a) 220 Ω
(b) 100 Ω
(c) 484 Ω
(d) इनमें से कोई नहीं
उत्तर – (c)

8 . 1 वोल्ट कहलाता है
(a) 1 जूल / सेकेण्ड
(b) 1 जूल / कुलॉम
(c) 1 जूल / एम्पियर
(d) इनमें से कोई नहीं
उत्तर – (b)

9. विभवान्तर मापने वाले यंत्र को कहा जाता है
(a) आमीटर
(b) वोल्टमीटर
(c) गैल्वोनोमीटर
(d) इनमें से कोई नहीं
उत्तर – (b)

10. एमीटर को विद्युत परिपथ में कैसे जोड़ा जाता है
(a) श्रेणीक्रम
(b) पार्श्वबद्ध
(c) a और b दोनों
(d) इनमें से कोई नहीं
उत्तर – (a)

11. किसी कुण्डली का प्रतिरोध ज्ञात करने का सूत्र है-
(a) $R = V \times I$
(b) $R = V/I$
(c) $R = I/V$

(d) R = V – I

उत्तर – (b)

12. धातुएँ धारावाहक होते है

(a) प्रोटॉन के

(b) मुक्त इलेक्ट्रॉन के

(c) कोर इलेक्ट्रॉन के

(d) इनमें से कोई नहीं

उत्तर – (b)

13. परिपथ में विद्युत धारा की माप किससे की जाती है

(a) वोलटमीटर से

(b) आमीटर से

(c) गैल्वेनोमीटर से

(d) इनमें से कोई नहीं

उत्तर – (b)

14. किस उपकरण में धन (+) और ऋण (–) का चिह्न नहीं होता है ।

(a) एमीटर मे

(b) वोल्ट – मीटर में

(c) कुंडली मे

(d) इनमें से कोई नहीं

उत्तर – (c)

15. 10 Ω एवं 20 Ω के दो प्रतिरोध को श्रेणीक्रम में जोड़ने पर समतुलय परतीरोध

(a) 200 Ω

(b) 20/3 Ω

(c) 30 Ω

(d) 10 Ω

उत्तर – (c)

16. 12V विभवान्तर के दो बिन्दुओं के बीच 2 कुलंब आवेश को ले जाने में कार्य किया जाता है

(a) 6 J

(b) 24J

(c) 14 J

(d) 10J

उत्तर – (b)

17. किसी विद्युत बल्ब के अनुमतांक 220V , 120W है । जब उसे 110 वोल्ट पर प्रचालित करते हैं तब इसके द्वारा उपमुक्त शक्ति कितनी होती है

(a) 100 वाट
(b) 75 वाट
(c) 60 वाट
(d) 25 वाट
उत्तर – (c)

18. दो चालक तार जिनमें पदार्थ की लम्बाई तथा व्यास समान है , किसी विद्युत परिपथ में पहले श्रेणी क्रम में और फिर पाशवं क्रम में संयोजन में उत्पन्न प्रतिरोधों का अनुपात क्या है ?
(a) 1 : 2
(b) 2 : 1
(c) 1 : 4
(d) 4 : 1
उत्तर – (d)

19. रेशम द्वारा रगड़ने पर काँच की छड़ में उत्पन्न आवेश है
(a) ऋण आवेश
(b) धन आवेश
(c) a और b दोनों
(d) इनमें से कोई नहीं
उत्तर – (b)

20. ऊन द्वारा एबोनाइट की छड़ को रगड़ने पर एबोनाइट के छड़ पर उत्पन्न होता है
(a) ऋण आवेश
(b) धन आवेश
(c) कोई आवेश नहीं
(d) इनमें से कोई नहीं
उत्तर – (a)

21. दो आवेशित वस्तुओं पर लगने वाले बल पर कौन – सा नियम लागू होता है ?
(a) फैराड का नियम
(b) एम्पियर का नियम
(c) कुलॉम का नियम
(d) ओम का नियम
उत्तर – (c)

22. 1 किलोवाट घंटा का व्यावहारिक मात्रक क्या है ?
(a) यूनिट
(b) वाट
(c) वाट – घंटा
(d) जूल / घंटा

उत्तर – (a)

23. निम्नलिखित में से कौन – सा पद विद्युत परिपथ में विद्युत – शक्ति को निरूपित नहीं करता है ?
(a) I2R
(b) IR2
(c) VI
(d) V2/R
उत्तर – (b)

24. बिजली के फ्यूज या तार बना होता है
(a) टिन का
(b) ताम्बे का
(c) ताम्बे और टिन दोनों का
(d) इनमें से कोई नहीं
उत्तर – (c)

25. 1 जुल का मान होता है
(a) 4.18 कैलोरी
(b) 0.24 कैलोरी
(c) 0.42 कैलोरी
(d) इनमें से कोई नहीं
उत्तर – (b)

26. बल्ब के तंतुओं के बनाने में टंगस्टन का उपयोग क्यों किया जाता है ?
(a) क्योंकि इसका गलनांक 3380°C
(b) क्योंकि यह निम्न ताप पर पिघलता है
(c) क्योंकि इसका गलनांक 100°C से 200°C तक है
(d) क्योंकि इसका गलनांक 3000°C है
उत्तर – (a)

27. 1eV (इलेक्ट्रॉन वोल्ट) बराबर होता है
(a) 1.6x 10-19 J
(b) 1.6 x 10-30J
(c) 1.6 x 1027J
(d) इनमें से कोई नहीं
उत्तर – (a)

28. 1 वाट निम्नलिखित में से किसके तुल्य है ।
(a) 1A/V
(b) 1V/A

(c) 1VA
(d) V – A
उत्तर – (c)

29. अगर दो आवेशों ql और q2 एक दूसरे से r दूरी पर स्थित हो तो कुलॉम के नियम से उत्पन्न बल होगा
(a) $F = k(q_l q_2 / r^2)$
(b) $F = (ql\ q2 / r^2)$
(c) F = -(ql q2 / r)
(d) इनमें से कोई नहीं
उत्तर – (a)

30. कुलाम के नियम में K को क्या कहा जाता है ?
(a) एक नियतांक
(b) समानुपाती नियतांक
(c) a और b दोनों
(d) इनमें से कोई नहीं
उत्तर – (b)

31. दो सजातीय आवेशों के बीच किस प्रकार का बल लगता है ?
(a) आकर्षण का
(b) प्रतिकर्षण का
(c) गुरुत्व बल
(d) चुम्बकीय बल
उत्तर – (b)

32. विजातीय आवेशों के बीच किस प्रकार का बल लगता है ।
(a) आकर्षण बल
(b) प्रतिकर्षण बल
(c) गुरुत्वाकर्षण बल
(d) इनमें से कोई नहीं
उत्तर – (a)

33. दो पिण्डों को आपस में रगड़ने पर दोनों पिण्ड समान रूप से धनाविष्ट और ऋणाविष्ट हो जाते है| इसे कहा जाता है
(a) ऊर्जा संरक्षण का नियम
(b) आवेश संरक्षण का नियम
(c) संहति संरक्षण के नियम
(d) इनमे से कोई नहीं
उत्तर – (b)

34. क्या प्रोटॉन आवेशन प्रक्रम में भाग लेता
(a) नहीं
(b) हाँ
(c) a और b दोनों
(d) इनमें से कोई नहीं
उत्तर – (a)

35. दो वस्तुओं को आपस में लगाने पर जो इलेक्ट्रॉन का त्याग करता है वह हो जाता है
(a) ऋणावेशित
(b) धनावेशित
(c) कोई आवेशित नही होता है
(d) इनमें से कोई नहीं
उत्तर – (b)

36. जिन वस्तुओं को रगड़ने पर जो इलेक्ट्रॉन ग्रहण करता है वह हो जाता है
(a) धनावेशित
(b) ऋणावेशित
(c) किसी पर कोई आवेश नहीं होता
(d) इनमें से कोई नहीं
उत्तर – (b)

37. स्थिर विद्युत में आवेश
(a) विरामवस्था में रहते हैं
(b) गतिकी अवस्था में रहते है
(c) दोनों अवस्था में रहते हैं
(d) किसी भी अवस्था में नहीं रहते हैं
उत्तर – (a)

38 . धारा विद्युत में आवेश रहते हैं
(a) बीरामावसथा मे
(b) गतिकी अवस्था में
(c) किसी भी अवस्था में
(d) इनमें से कोई नहीं
उत्तर – (b)

39. जिन पदार्थों में विद्युत मुक्त रूप से प्रवाहित हो सकती है उन्हें कहा जाता है ?
(a) अर्द्ध – विद्युत चालक
(b) विद्युतरोधी
(c) विद्युत चालक

(d) इनमें से कोई नहीं
उत्तर – (c)

40. जिन पदार्थों से विद्युत प्रवाह आसानी से नहीं होती है उसे कहते हैं
(a) विद्युतरोधी
(b) विद्युत चालक
(c) a और b दोनों
(d) इनमें से कोई नहीं
उत्तर – (a)

41. जो पदार्थ घर्षण द्वारा आसानी से आवेशित हो जाते हैं वे कहे जाते हैं
(a) विद्युत चालक
(b) विद्युत रोधी
(c) a और b दोनों
(d) इनमें से कोई नहीं
उत्तर – (b)

42. किसी स्रोत से सतत् धारा उत्पन्न करने की सरल युक्ति को कहते हैं
(a) वोल्टीय सेल
(b) सुखा सेल
(c) संचायक सेल
(d) इनमें से कोई नहीं
उत्तर – (a)

43. विद्युत प्रवाह की दिशा मानी जाती है
(a) ऋण टर्मिनल से धन टर्मिनल की ओर
(b) धन टर्मिनल से ऋण टर्मिनल की ओर
(c) किसी भी दिशा में
(d) इनमें से कोई नहीं
उत्तर – (b)

44. एकांक समय में विद्युत आवेश के परिमाण के प्रवाह को क्या कहा जाता है ?
(a) विद्युत विभव
(b) विद्युत प्रतिरोध
(c) विद्युत धारा
(d) इनमें से कोई नहीं
उत्तर – (c)

45. आवेश का मात्रक है
(a) कुलॉम

(b) वोल्ट
(c) एम्पियर
(d) ओम
उत्तर – (a)

46. किसी तार से 1 A विद्युत धारा प्रवाहित होती है तो तार के प्रत्येक बिन्दु से कितनी इलेक्ट्रॉन प्रवाहित होती है
(a) 1.6×10^{19}
(b) 4.32×10^{27}
(c) 6.25×10^{18}
(d) इनमें से कोई नहीं
उत्तर – (c)

47. किसी विद्युत लैंप के तंतु से 0.4A की धारा प्रवाहित हो रही है । अगर लैंप तीन घंटे तक प्रकाश देता है तो प्रवाहित आवेश है
(a) 4320 कुलॉम
(b) 1.6 x 1019 कुलॉम
(c) 1.4 x 1019 कुलॉम
(d) इनमें से कोई नहीं
उत्तर – (a)

48. ओम के नियम से निम्नलिखित में से कौन सत्य है?
(a) 1=V/ R
(b) V = I / R
(c) R = VxI
(d) इनमें से कोई नहीं
उत्तर – (a)

49. ओम के नियम में अचर राशि क्या है ?
(a) प्रतिरोध
(b) ताप
(c) धारा
(d) इनमें से कोई नहीं
उत्तर – (b)

50. ओम के नियम में विद्युत धारा और विभवान्तर के बीच खींचा गया आलेख होता है
(a) सरल रेखा
(b) वक्र रेखा
(c) a और b दोनों
(d) इनमें से कोई नहीं

उत्तर – (a)

51. निम्न में से कौन-सा संबंध सत्य है?
(A) V=1/R
(B) V=-IR
(C) V= IR
(D) V= I/R
उत्तर – (C)

52. प्रतिरोध का S.I मात्रक क्या है?
(A) जूल
(B) वोल्ट
(C) ओम
(D) एम्पियर
उत्तर – (C)

53. निम्न में से कौन-सा पद विद्युत परिपथ में विद्युत शक्ति को निरूपित करता है?
(A) I2R
(B) IR2
(C) V2I
(D) VI2
उत्तर – (A)

54. विद्युत धारा का S.I. मात्रक है-
(A) वोल्ट
(B) कुलॉम
(C) वाट
(D) एम्पियर
उत्तर – (D)

55. शुष्क सेल में ऋण इलेक्ट्रोड किस धातु का होता है?
(A) कार्बन का
(B) जस्ता का
(C) तांबा का
(D) इनमें से कोई नहीं
उत्तर – (B)

56. शुष्क सेल में धन इलेक्ट्रोड किस धातु का होता है?
(B) जस्ता का
(A) कॉपर का

(C) कार्बन का
(D) लोहे का
उत्तर – (C)

57. बल्ब के तंतुओं को बनाने में टंगस्टन काउपयोग क्यों किया जाता है?
(A) क्योंकि इसका गलनांक 3380° C है
(B) क्योंकि यह निम्न ताप पर पिघलता है
(C) क्योंकि इसका गलनांक 100°C-200°C के बीच है
(D) क्योंकि इसका गलनांक 3000°C है।
उत्तर – (A)

58. 1 वाट निम्नलिखित में से किसके तुल्य है?
(A) 1A/V
(B) 1V/A
(C) 1VA
(D) V-A
उत्तर – (C)

59. 1 m A = कितना होता है?
(A) 10^{-3}A
(B) 10^{-2}A
(C) 10^{-1}A
(D) 10^{-11} A
उत्तर – (A)

LIMITED TIME OFFER

Unlock Detailed Explanations 🔓

✓ Get Full Explanations for every question.

✓ Understand the 'Why' behind the answer.

✓ Instant access to the complete 243-page PDF.

This page only shows Q&A. For deep learning, get the full PDF.

BUY FULL PDF NOW

60. 1μA = कितना है?
(A) 10^{-5}A
(B) 10^{-4}A
(C) 10^{-4}A
(D) 10^{-6}A
उत्तर – (D)

61. चालक में इलेक्ट्रॉन तभी गमन कर सकता जब चालक के अनुदिश-
(A) विद्युत दाब में कोई अंतर नहीं होता है
(B) विद्युत दाब में अंतर होता है
(C) विद्युत दाब सभी स्थानों पर समान होता है
(D) विद्युत दाब का कोई महत्त्व नहीं है
उत्तर – (B)

62. अगर Q आवेश विभवांतर V से प्रवाहित हो तो किया गया कार्य होगा-
(A) V/Q
(B) Q/V
(C) V.Q
(D) V- Q
उत्तर – (C)

63. सेल बाहरी परिपथ में जिस प्लेट से धारा भेजती है, उसे सेल को कहते हैं-
(A) धन-ध्रुव
(B) ऋण-ध्रुव
(C) दोनों
(D) इनमें से कोई नहीं
उत्तर – (A)

64. किसी चालक का प्रतिरोध निर्भर करता है.
(A) चालक की लम्बाई पर
(B) चालक के अनुप्रस्थ काट के क्षेत्रफल पर
(C) चालक की प्रकृति पर
(D) उपर्युक्त सभी पर
उत्तर – (D)

65. किसी स्थाई विद्युत धारा द्वारा समय t में उत्पन्न ऊष्मा की मात्रा क्या है यदि ऊष्मा H है-
(A) H= Vt
(B) H= VIt
(C) H=VI/t
(D) H=Vt/t

उत्तर – (B)

66. किसी विद्युत लैंप के तंतु से 0.4A की धारा प्रवाहित हो रही है। अगर लैम्प तीन घंटे प्रकाश देता है तो प्रवाहित आवेश है..

(A) 4320 कूलॉम

(B) 1.6 x 10″ कूलॉम

(C) 1.6 x 10 कूलॉम

(D) इनमें से कोई नहीं

Ans(A)

67. किसी विद्युत परिपथ में परिपथ के प्रतिरोधक परिवर्तित करने के लिए किस युक्ति का उपयर किया जाता है?

(A) धारा नियंत्रक

(B) परिवर्ती प्रतिरोध

(C) (A) एवं (B) दोनों

(D) इनमें से कोई नहीं

उत्तर – (A)

68. कोई विद्युत बल्ब 220V के जनित्र से संयोजित है। यदि बल्ब से 0.50A विद्युत धारा प्रवाहित होती है तो बल्ब की शक्ति होगी।

(A) 100W

(B) 120W

(C) 105w

(D) 110w

उत्तर – (D)

69. किसी विद्युत बल्ब के तंतु में से 0.5A विद्याधारा 10 मिनट तक प्रवाहित होती है। विद्युत परिया से प्रवाहित विद्युत आवेश का परिमाण है-

(A) 3000

(B) 60C

(C) 120C

(D) 200C

उत्तर – (A)

70. विद्युत प्रवाहित कर किसी धातु की वस्तु ए अन्य किसी वांछित धातु की परत निक्षेपित करने के प्रक्रम को कहते हैं।

(A) विद्युत लेपन

(B) विद्युत अपघटन

(C) (A) तथा (B) दोनों

(D) इनमें से कोई नहीं

उत्तर – (A)

71. वह अवयव जो उच्च प्रतिरोध लगाता है उसे कहते हैं-
(A) अच्छा चालक
(B) मध्यम चालक
(C) हीन चालक
(D) इनमें से कोई नहीं
उत्तर – (C)

72. विद्युत बल्ब के भीतर निष्क्रिय गैसें भरी जारीहैं.
(A) रोशनी तेजी करने के लिए
(B) टंगस्टन के वाष्पन को रोकने के लिए
(C) बल्ब की सुरक्षा के लिए
(D) इनमें से कोई नहीं
उत्तर – (B)

73.विद्युत बल्ब का फिलामेंट होता है-
(A) टंगस्टन का
(B) ताँबा का
(C) प्लेटिनम का
(D) इनमें से कोई नहीं
उत्तर – (A)

74. विद्युत चुम्बक बनाने के लिए उपयुक्त पदार्थ है.
(A) नरम लोहा
(B) इस्पात
(C) निकेल
(D) इनमें से कोई नहीं
उत्तर – (A)

75.किसी विद्युत धारा के सतत तथा बंद पथ को क्या कहते हैं ?
(A) विद्युत परिपथ
(B) विद्युत धारा पथ
(C) विद्युत विभव पथ
(D) विद्युतशक्ति पथ
उत्तर – (A)

76. विधुत धारा के तापीय प्रभाव का उपयोग किसमें नहीं होता है
(A) विद्युत हीटर
(B) विद्युत इस्तरी

(C) विद्युत बल्ब
(D) विद्युत पंखा
उत्तर – (D)

77. विद्युत धारा की चाल, प्रकाश को चाल में क्या सम्बन्ध है?
(A) दोनों की चाल समान है
(B) विद्युत धारा की चाल प्रकाश की चाल से अधिक है
(C) प्रकाश की चाल विद्युत धारा की चाल से अधिक है
(D) सभी कथन सत्य हैं
उत्तर – (A)

78. किसी विद्युत परिपथ में इकाई धन-आवेश को एक बिंदु से दूसरे बिंदु तक ले जाने में किये कार्य को मापा जाता है, उन बिंदुओं के बीच
(A) की धारा से
(B) के विभवांतर से
(C) के प्रतिरोध से
(D) इनमें से कोई नहीं
उत्तर – (B)

79. जब सेल से कोई विद्युत धारा नहीं ली जाए तो उनके दोनों टर्मिनलों के बीच विभवांतर
(A) शून्य होता है
(B) शून्य नहीं होता है
(C) दोनों टर्मिनल पर पर्याप्त समान विभव होता है
(D) सभी कथन सत्य
उत्तर – (B)

80. विद्युत धारा उत्पन्न करने की युक्ति को कहते
(A) जनित्र
(B) गैल्वेनोमीटर
(C) ऐमीटर
(D) HTZT,
उत्तर – (A)

81. वह विद्युत धारा जो तार की प्रति मीटर लंबाईके लिए 2×10^{-7} N बल उत्पन्न करती है वह धारा-
(A) 1 ऐम्पियर
(B) 2 ऐम्पियर
(C) 3 ऐम्पियर
(D) 10 ऐम्पियर
उत्तर – (A)

82, आमीटर को विद्युत परिपथ में कैसे जोड़ा जाता है?
(A) श्रेणीक्रम
(B) पार्श्वबद्ध
(C) (A) और (B) दोनों
(D) इनमें से कोई नहीं
उत्तर – (A)

83. अगर तीन चालक R_1, R_2और R_3 श्रेणीक्रम में संयोजित हैं तो उसका समतुल्य प्रतिरोध Rs होगा
(A) $Rs= R_1+R_2+ R_3$
(B) $Rs=1/R_1+1/R_2+1/R_3$
(C) $1/Rs=R_1+R_2+R_3$
(D) इनमें से कोई नहीं
उत्तर – (A)

84. अगर तीन प्रतिरोध R_1 R_2 और R_3 पार्श्ववद्धसंयोजित हैं तो इनका समतुल्य प्रतिरोध R होगा-
(A) $Rs = R_1+ R_2+ R_3$
(B) $1/Rs = R_1 + R_2 + R_3$
(C) $1/Rs = 1/R_1+1/R_2+1/R_3$
(D) इनमें से कोई नहीं
उत्तर – (C)

85. किसी प्रतिरोधक में क्षयित अथवा उपभुक्त ऊर्जा व्यक्त किया जाता है।
(A) W = VI
(B) W= V x I x T
(C) W = VT
(D) इनमें से कोई नहीं
उत्तर – (B)

86. 12V विभवान्तर के दो बिन्दुओं के बीच 2C आवेश को ले जाने में कितना कार्य होगा?
(A) 24J
(B) 20J
(C) 36J
(D) 23J
उत्तर – (A)

87. 6V बैटरी से गुजरने वाले हर एक कूलॉम आवेश को कितनी ऊर्जा दी जा सकती है?
(A) 12J
(B) 6J
(C) 1J
(D) 5J

उत्तर – (B)

88. इलेक्ट्रॉन पर आवेश होता है-
(A) 1.6×10^{19} कूलंब
(B) 1.6×10^{27} कूलंब
(C) 1.6×10^{-19} कूलंब
(D) इनमें से कोई नहीं
उत्तर – (C)

89. समांतरक्रम में संयोजित 10 प्रतिरोधों का जिनमें. प्रत्येक का मान 10 ओम है, समतुल्य प्रतिरोध होता है-
(A) 10Ω
(B) 100Ω
(C) 1Ω
(D) 20Ω
उत्तर – (C)

90. अगर बैटरी से केवल प्रतिरोधकों के एक समूह ही संयोजित है तो स्रोत की ऊर्जा निरंतर पूर्ण रूप से किस ऊर्जा में परिवर्तित होगा?
(A) प्रकाश ऊर्जा में
(B) तापीय ऊर्जा में
(C) यांत्रिक ऊर्जा में
(D) गतिज ऊर्जा में
उत्तर – (B)

91. धातुओं तथा मिश्रधातुओं की प्रतिरोधकता बहुत कम होती है जिसका परिसर है-
(A) 10^{-8} Ω m से 10^{-6}Ω m
(B) 10^{-2} Ω m से 10^{-3}Ω m
(C) 10^{8}Ω m से 10^{6} m
(D) 10^{4} Ωm से 10^{10} Ωm
उत्तर – (A)

92. अर्द्धचालक का ताप बढ़ने पर उसका प्रतिरोध-
(A) बढ़ता है
(B) घटता है
(C) अपरिवर्तनीय रहता है
(D) इनमें से कोई नहीं
उत्तर – (C)

93. यदि चाँदी के तार का ताप बढ़ाया जाय, तोउसका प्रतिरोध-

(A) बढेगा
(B) घटेगा
(C) अपरिवर्तित रहेगा
(D) इनमें से कोई नहीं
उत्तर – (A)

94. यदि R_1 तथा R_2 दो प्रतिरोध समान्तर श्रेणी मेंजुड़े हैं, तो समतुल्य प्रतिरोध होगा-
(A) R_1 से अधिक
(B) R_2 से अधिक
(C) प्रत्येक से कम
(D) इनमें से कोई नहीं
उत्तर – (C)

95. यदि चार समान प्रतिरोध को श्रेणीक्रम में जोड़ा जाता है, तो उनका तुल्य प्रतिरोध 20 ओम होता है, प्रत्येक प्रतिरोध होगा-
(A) 5 ओम
(B) 10 ओम
(C) 2.5 ओम
(D) इनमें से कोई नहीं
उत्तर – (A)

96. सेल का वि० वा० बल-
(A) उसके भीतर विभव का वितरण है
(B) उससे संबद्ध एक अभिकर्ता है
(C) उसकी ऊर्जा है
(D) भीतरी आयनों का घनत्व है
उत्तर – (B)

97. एक बल्ब से 1 मिनट में 120 कूलम्ब आवेश प्रवाहित हो रहा है, तो विद्युत धारा का मान ज्ञात करें।
(A) 1 एम्पियर
(B) 2 एम्पियर
(C) 3 एम्पियर
(D) 4 एम्पियर
उत्तर – (B)

98. किस उपकरण में धन (+) और ऋण (-) का चिह्न नहीं होता है?
(A) एमीटर में
(B) वोल्टमीटर में
(C) कुंडली में

(D) विद्युत सेल में

उत्तर – (C)

99. लम्बाई बढ़ने से तार का प्रतिरोध-

(A) बढ़ता है

(B) घटता है

(C) कोई परिवर्तन नहीं होता है

(D) इनमें से कोई नहीं

उत्तर – (A)

100. यदि पाँच समान प्रतिरोधों को समांतरक्रम में जोड़ने पर उनका तुल्य प्रतिरोध 10 ओम हो, तो प्रत्येक प्रतिरोध होगा।

(A) 50 ओम

(B) 25 ओम

(C) 100 ओम

(D) इनमें से कोई नहीं

उत्तर – (A)

101. श्रेणीक्रम में संयोजित समान मान के चार प्रतिरोधों के समूह का तुल्य प्रतिरोध 16Ω है प्रत्येक प्रतिरोध का मान है-

(A) 1Ω

(B) 2Ω

(C)3Ω

(D)4Ω

उत्तर – (D)

102. प्रतिरोध R के किसी तार के टुकड़े को पाँच बराबर भागों में काटा जाता है । इन टुकड़ों को फिर पार्श्वक्रम में संयोजित कर देते हैं । यदि संयोजन का तुल्य प्रतिरोध R' है तो RIR' अनुपात का मान क्या है-

(A)1/25

(B)1/5

(C) 5

(D) 25

उत्तर – (D)

103. 1kW के विद्युत हीटर को 220V के स्रोत से जोड़ने पर कितनी धारा प्रवाहित होगी?

(A) 5.45 एम्पियर

(B) 54.5 एम्पियर

(C) 45.5 एम्पियर

(D) 4.55 एम्पियर

उत्तर – (D)

104. 2kW हीटर में कितनी विद्युत धारा का प्रवाह होगा जब उसे 100 वोल्ट के स्रोत से जोड़ा गया है:
(A) 1A
(B) 10A
(C) 20A
(D) 40A
उत्तर – (C)

105. यदि किसी चालक से एक कूलॉम आवेश प्रवाहित होने में एक जूल कार्य हो, तो उस पर चालक के सिरों के बीच विभवांतर होगा
(A) 1 वोल्ट
(B) 2 वोल्ट
(C) 3 वोल्ट
(D)4 वोल्ट
उत्तर – (A)

106. 20Ω,5Ω तथा 40 के प्रतिरोध समान्तर क्रम में जोड़े जाएँ तो संयुक्त प्रतिरोध होगा :
(A) 2Ω
(B) 29Ω
(C) 0.5Ω
(D) उपरोक्त कोई भी नहीं
उत्तर – (A)

107. जब कोई सेल परिपथ (circuit) से जुड़ा नहीं है तब उनके ध्रुवों के बीच 1.5 V का विभवांतर है। सेल का विद्युत वाहक बल होगा-
(A) 1.5V
(B) 1V
(C) 0.5V
(D) 3V
उत्तर – (A)

108. 100 W का विद्युत बल्व 250 V के विद्युत मेन से जोड़ा जाता है। बल्ब से प्रवाहित धारा का मान होगा-
(A) 0.1 एम्पियर
(B) 0.4 एम्पियर
(C) 2.5 एम्पियर
(D) 10 एम्पियर
उत्तर – (B)

109. जब किसी चालक तार से विद्युत धारा प्रवाहित होती है तो गतिशील कण होते हैं
(A) परमाणु
(B) आयन
(C) प्रोटॉन
(D) इलेक्ट्रॉन
उत्तर – (D)

110. समांतर क्रम में संयोजित प्रतिरोधों की संख्या घटने के उपरांत संयोजित प्रतिरोधों का कुल प्रतिरोध
(A) बढ़ता है
(B) घटता है
(C) अपरिवर्तित रहता है
(D) इनमें से कोई नहीं
उत्तर – (A)

111. किसी विद्युत बल्ब का अनुमतांक 220V-100W है जब इसे 110V पर प्रचालित करते हैं तब इसके द्वारा उपयुक्त शक्ति कितनी होती है?
(A) 100W
(B) 75W
(C) 50w
(D) 25W
उत्तर – (C)

112. अगर प्रतिरोधक का प्रतिरोध R हो और परिपथ में I सेकेण्ड तक I विद्युत धारा प्रवाहित होती हो तो ताप H को व्यक्त किया जाता है-
(A) $H = IRt$
(B) $H= I^2R$
(C) $H = I^2Rt$
(D) $H=RT/I^2$
उत्तर – (C)

113. किसी विद्युत स्रोत द्वारा परिपथ में निवेशितशक्ति का मान क्या होगा जब Q आवेश V विभवांतर पर 1 सेकेण्ड तक प्रवाहित होता है-
(A) VI
(B) VQ
(C) $Q/V\times t$
(D) $V/Q\times t$
उत्तर – (A)

114. 20° C पर सिल्वर का विद्युत प्रतिरोधकता है-
(A) $6.84\times10^{-8}\ \Omega m$

(B) $10^{12}\Omega$ m
(C) 49x 10^{-6} Ω m
(D) 1.60×10^{-8} Ω m
उत्तर – (D)

115. परिपथ में कितने अनुमतांक का फ्यूज उपयोग किया जाता है, जबकि 220 V पर 1 kW का विद्युत उपभुक्त होती है-
(A) 1A
(B) 3 A
(C) 4A
(D) 5A
उत्तर – (D)

116. परिपथ में किन्हीं दो बिंदुओं के बीच का विभवांतर मापा जाता है
(A) आमीटर से
(B) वोल्टमीटर से
(C) डायनेमो से
(D) इनमें से कोई नहीं
उत्तर – (B)

117. निम्न में से किसका अर्थ जल होता है?
(B) टरबो
(A) पेट्रो
(C) नाइट्रो
(D) हाइड्रो
उत्तर – (D)

118. दो सदृश आवेशों के बीच किस प्रकार का बल लगता है?
(A) आकर्षण बल
(B) कोई बल नहीं
(C) प्रतिकर्षण बल
(D) इनमें से कोई नहीं
उत्तर – (C)

119. रासायनिक ऊर्जा का कुछ भाग खर्च होता है
(A) यांत्रिक ऊर्जा में
(B) नाभिकीय ऊर्जा में
(C) गतिज ऊर्जा में
(D) सौर ऊर्जा में
उत्तर – (A)

120. विभवांतर किसमें गति प्रदान करने का काम करता है?
(A) प्रोटॉन में
(B) इलेक्ट्रॉन में
(C) न्यूट्रॉन में
(D) धारा में
उत्तर – (B)

121. सेल के भीतर होने वाली रासायनिक अभिक्रिया सेल के दो टर्मिनलों के बीच उत्पन्न करता है-
(A) विभवांतर
(B) आवेश
(C) धार
(D) प्रोटॉन
उत्तर – (A)

122. किसी चालक की किसी भी अनुप्रस्थ काट समय में नेट आवेश Q प्रवाहित होता है तो. प्रवाहित विद्युत धारा | का मान होता है-
(A) Q=I/t
(B) I=Qt
(C) I=Q/t
(D) t = Qt
उत्तर – (C)

123. बल्ब की आयु में वृद्धि के लिए इसमें मुख्यतः कौन से गैस भरे जाते हैं?
(A) H अथवा ऑक्सीजन
(B) नाइट्रोजन तथा आर्गन गैस
(C) हीलियम अथवा नियॉन गैस
(D) ऑक्सीजन और क्लोरीन गैस
उत्तर – (B)

124. किसी चालक में उत्पन्न ऊष्मा अनुक्रमानुपाती
(A) धारा के
(B) धारा के वर्ग के
(C) धारा के वर्गमूल के
(D) इनमें से कोई नहीं
उत्तर – (B)

125. किसी चालक में प्रवाहित धारा के लिए ओम का नियम लागू होता है
(A) जब चालक का ताप अचर रहता है
(B) जब चालक का ताप चर रहता है

(C) जब चालक के सिरों के बीच विभवांतर अचर रहता है
(D) जब चालक के सिरों के बीच विभावंतर
चर रहता है
उत्तर – (A)

126. शुष्क कागज की प्रतिरोधकता है।
(A) $10^{14}\Omega m$
(B) $10^{15}\Omega m$
(C) $10^{12}\Omega m$
(D) इनमें से कोई नहीं
उत्तर – (C)

127. प्रतिरोध किसी पदार्थ का ऐसा गुण धर्म है जो चालक में किसके प्रवाह में अवरोध उत्पन्न करता है?
(A) इलेक्ट्रॉनों के
(B) प्रोटॉनों के
(C) (A) और (B) दोनों का
(D) इनमें से किसी का नहीं
उत्तर – (A)

128. यदि किसी प्राथमिक सेल का पूर्णतः उपयोग कर लिया गया हो तो उसे दोबारा आवेशित करना संभव है या नहीं?
(A) हाँ
(B) नहीं
(C) (A) और (B) दोनों
(D) इनमें से कोई नहीं ।
उत्तर – (B)

129. संचायक बैटरियों को पुनः आवेशित करना संभव है या नहीं..
(A) नहीं
(B) हाँ
(C) (A) एवं (B) दोनों
(D) इनमें से कोई नहीं
उत्तर – (B)

130. जब 1A धारा, IV विभवान्तर पर प्रवाहित होती उपभुक्त ऊर्जा क्या है?
(A) 1 वाट
(B) 2 वाट
(C) 8 वाट
(D) 4 वाट
उत्तर – (A)

131. I kwt कितने जूल के बराबर है?
(A) 3600 जूल
(B) 36000 जूल
(C) 360000 जूल
(D) 3600000.जूल
उत्तर – (A)

132. खनिज, अम्लों के जलीय विलयन विद्युत केचालक होते हैं, अत: इन्हें कहा जाता है.
(A) विद्युत अपघट्य
(B) चालक
(C) अचालक
(D) विद्युत अपघटन
उत्तर – (A)

133. लेड सल्फ्यूरिक अम्ल सेल का उपयोग होता।
(A) ऑटोमोबाइल में
(B) औद्योगिक कार्यों में
(C) (A) एवं (B) दोनों
(D) कोई नहीं
उत्तर – (C)

134. जो वस्तु रगड़ने पर इलेक्ट्रॉन ग्रहण करता है वह हो जाता है-
(A) धनावेशित
(B) ऋणावेशित
(C) किसी पर कोई आवेश नहीं
(D) इनमें से कोई नहीं
उत्तर – (B)

135. स्रोत की वोल्टता में बिना कोई परिवर्तन किए परिपथ की विद्युत धारा को नियंत्रित करने के लिए उपयोग किए जाने वाले अवयव की क्याकहते हैं?
(A) प्रतिरोध
(B) परिवर्ती प्रतिरोध
(C) कोई प्रतिरोध नहीं
(D) इनमें से कोई नहीं
उत्तर – (B)

136. स्रोत की वोल्टता में बिना कोई परिवर्तन किए परिपथ के विद्युत धारा को नियंत्रित करने के लिए उपयोग किए जाने वाले अवयव को क्या कहते हैं ?
(a) प्रतिरोध

(b) परिवर्ती प्रतिरोध
(c) कोई प्रतिरोध नहीं
(d) इनमें से कोई नहीं
उत्तर – (b)

137. प्रतिरोध किसी पदार्थ का ऐसा गुण – धर्म है जो चालक में किसके प्रवाह में अवरोध उत्पन्न करता है
(a) इलेक्ट्रॉन के
(b) प्रोटॉन के
(c) a और b दोनों के
(d) इनमें से किसी का नहीं
उत्तर – (a)

138. यदि किसी प्राथमिक सेल का पूर्णतः उपयोग कर लिया गया हो तो उसे दोबारा आवेशित करना संभव है या नहीं
(a) हॉ
(b) नहीं
(e) a एवं b दोनों
(d) इनमें से कोई नहीं
उत्तर – (b)

139 . संचायक बैटरियों को पुनः आवेशित करना संभव है या नहीं
(a) नहीं
(b) हाँ
(c) a और b दोनों
(d) इनमें से कोई नहीं
उत्तर – (b)

140 . जब 1A धारा 1V विभवान्तर पर प्रवाहित होती है तो उपयुक्त उर्जा क्या है ?
(a) 1 वाट
(b) 2 वाट
(c) 8 वाट
(d) 4 वाट
उत्तर – (a)

141. 1W कितने जूल के बराबर होता है ?
(a) 3600J
(b) 36000J
(c) 3600000J
(d) 360000J
उत्तर – (a)

142. लेड सल्फ्यूरिक अम्ल सेल का उपयोग होता है
(a) औटो मोबाइल में
(b) औद्योगिक कार्यों में
(c) a और b दोनों
(d) इनमें से किसी में नहीं
उत्तर – (c)

143. विद्युत प्रवाहित कर किसी धातु की सतह पर अन्य किसी वांछित धातु की परत निक्षेपित करने के प्रक्रम को कहते हैं
(a) विद्युत लेपन
(b) विद्युत अपघटन
(c) a और b दोनों
(d) इनमें से कोई नहीं
उत्तर – (a)

144 . शुष्क सेल में प्राण इलेक्ट्रोड किस धातु का होता है ?
(a) कार्बन का
(b) जस्ता का
(c) ताँबा का
(d) लोहा का
उत्तर – (b)

145. लम्बाई बढ़ने से चालक तार का प्रतिरोध –
(a) बढ़ता है
(b) घटता है
(c) कोई परिवर्तन नहीं होता है
(d) इनमें से कोई नहीं
उत्तर – (a)

146. यदि पांच समान प्रतिरोधों को समांतर क्रम में जोड़ने पर उनका तुल्य प्रतिरोध 10 ओम है तो प्रत्येक प्रतिरोध क्या है ?
(a) 50Ω
(b) 25Ω
(c) 100Ω
(d) इनमें से कोई नहीं
उत्तर – (a)

147. श्रेणीक्रम में संयोजित समान मान के चार प्रतिरोधों का समतुल्य प्रतिरोध 16 Ω है । प्रत्येक प्रतिरोध का मान है

(a) 1 Ω
(b) 2 Ω
(c) 3 Ω
(d) 4 Ω
उत्तर – (d)

148. प्रतिरोधकता का मात्रक है
(a) ओम – मीटर
(b) ओम –2
(c) ओमी / मीटर
(d) इनमें से कोई नहीं
उत्तर – (a)

149. प्रतिरोध R के किसी तार के टुकड़ों को पांच बराबर भागों में काटा जाता है । इन टुकड़ों को फिर पार्शवकर्म मे संयोजित कर देते हैं । अगर संयोजन का समतुल्य प्रतिरोध R' है . तो R / R' का अनुपात होगा
(a) 1/25
(b) 1/5
(c) 5
(d) 25
उत्तर – (d)

150. 1KW के विद्युत हीटर को 220V के स्रोत से जोड़ने पर इससे कितनी विद्युत धारा प्रवाहित होगी ?
(a) 5.45 A
(b) 54.5 A
(c) 45.5A
(d) 4.55A
उत्तर – (d)

151. 2KW के विद्यत हीटर में कितनी विद्युत धारा का प्रवाह होगा जब उसे 100 V के स्रोत से जोड़ा गया हो
(a) 1A
(b) 10A
(c) 20A
(d) 40A
उत्तर – (c)

152. यदि किसी चालक से एक कुलॉम आवेश प्रवाहित होने से 1 जूल कार्य हो तो उस पर चालक के सिरों के बीच विभवान्तर होगा

(a) 1वोल्ट
(b) 2 वोल्ट
(c) 3 वोल्ट
(d) 4वोल्ट
उत्तर – (a)

153. 20 Ω, 5 Ω तथा 4 Ω के प्रतिरोध समांतर क्रम में संयोजित है तो समतुल्य प्रतिरोधी होगा
(a) 2 Ω
(b) 29 Ω
(c) 0.5 Ω
(d) इनमें से कोई नहीं
उत्तर – (a)

154 . 20 ° C पर सिल्वर का विद्युत प्रतिरोध है
(a) $6.84 \times 10^{-8}\Omega$
(b) 1012 Ω
(c) $49 \times 10^{-6}\Omega$
(d) $1.60 \times 10^{-8}\Omega$
उत्तर – (d)

155. इलेक्ट्रॉन पर आवेश होता है
(a) $1.6 \times 10^{20}C$
(b) $1.6 \times 10^{27}C$
(c) $1.6 \times 10^{-19}C$
(d) इनमें से कोई नहीं
उत्तर – (c)

156. समांतर क्रम में संयोजित 10 प्रतिरोधों जिनमें से प्रत्येक का मान 10 Ω है , समतुल्य प्रतिरोध है
(a) 10 Ω
(b) 100 Ω
(c) 1 Ω
(d) 20 Ω
उत्तर – (c)

157. धातुओं तथा मिश्र धातुओं की प्रतिरोधकता बहुत कम होती है जिसका परिसर है
(a) $10^{-8}\Omega$ m से 10^{-6} Ω m
(b) 10^{-2} Ω m से 10^{-3} Ω m
(c) 10^{8} Ω m से 10^{6} Ω m
(d) 10^{4} Ω m से 10^{10} Ω m
उत्तर – (a)

158. अर्द्धचालक का ताप बढ़ने पर उसका प्रतिरोध
(a) बढ़ता है
(b) घटता है
(c) अपरिवर्तित रहता है
(d) इनमें से कोई नहीं
उत्तर – (a)

159. यदि चांदी के तार का ताप बढ़ाया जाय तो उसका प्रतिरोध
(a) बढ़ेगा
(b) घटेगा
(c) अपरिवर्तित रहेगा
(d) इनमें से कोई नहीं
उत्तर – (a)

160. यदि R_1 और R_2 दो प्रतिरोध समांतर क्रम में जुड़े हों तो समतुल्य प्रतिरोध होगा
(a) R_1 से अधिक
(b) R_2 से अधिक
(c) प्रत्येक से कम
(d) इनमें से कोई नहीं
उत्तर – (c)

161. यदि चार समान प्रतिरोधकों को श्रेणी क्रम में जोड़ा जाता है तो उनका समतुल्य प्रतिरोध 20 ओम होता है तो प्रत्येक प्रतिरोध होगा
(a) 5 Ω
(6) 10 Ω
(c) 2.5 Ω
(d) इनमें से कोई नहीं
उत्तर – (a)

162. सेल का विद्युत वाहक बल
(a) उसके भीतर विभव का वितरण है
(b) उससे संबंधित एक अभिकर्ता है उसे
(c) उसकी उर्जा है
(d) भीतरी आयनों का घनत्व है
उत्तर – (b)

163. रासायनिक ऊर्जा का कुछ भाग खर्च होता है
(a) यांत्रिक कर्जा में
(b) नाभिकीय ऊर्जा में

(c) गतिज ऊर्जा में
(d) सौर ऊर्जा में
उत्तर – (a)

164. विभवान्तर किसमें गति प्रदान करने का काम करता है ?
(a) प्रोटॉन में
(b) इलेक्ट्रॉन में
(c) न्यूट्रॉन में
(d) विद्युत धारा में
उत्तर – (b)

165. सेल के भीतर होने वाली रासायनिक अधिक्रिया सेल के दो टर्मिनलों के बीच उत्पन्न करता है
(a) विभवान्तर
(b) आवेश
(c) विद्युत धारा
(d) प्रोटॉन
उत्तर – (a)

166. किसी चालक की किसी भी अनुप्रस्थ काट से समय t में नेट आवेश Q प्रवाहित होता है तो प्रवाहित विद्युत धारा का मान होता है
(a) Q=I / t
(b) I = Qt
(c) 1 =Q/t
(d) 1 = QI
उत्तर – (c)

167. बल्ब की आयु में वृद्धि के लिए इसमें मुख्यतः कौन से गैस भरे जाते
(a) H_2 अथवा O_2 गैस
(b) N_2 तथा Ar गैस
(c) He तथा Ne गैस
(d) O_2 या Cl_2 गैस
उत्तर – (b)

168. किसी चालक में उत्पन्न ऊष्मा अनुक्रमानुपाती है
(a) धारा में
(b) धारा के वर्ग के
(c) धारा के वर्गमूल के
(d) इनमें से कोई नहीं
उत्तर – (b)

169. किसी चालक में प्रवाहित धारा के लिए ओम के नियम लागू होता है
(a) जब चालक का ताप अचर रहता है
(b) जव चालक का ताप चर रहता है
(c) जब चालक के सिरों के बीच विभवान्तर अचर रहता है
(d) जब चालक के सिरों के बीच विभवान्तर चर रहता है
उत्तर – (a)

170. परिपथ में कितने अनुमतांक का फ्यूज उपयोग किया जाता है जबकि 220V पर 1KW की विद्युत उपमुक्त होती है ?
(a) 1A
(b) 3A
(c) 4A
(d) 5A
उत्तर – (d)

171. जब कोई सेल परिपथ में जुड़ा नहीं है तब उनके ध्रुवों के बीच 1.5V का विभवान्तर है । सेल का विद्युत वाहक बल होगा
(a) 1.5V
(b) 1V
(c) 0.5V
(d) 0.3V
उत्तर – (a)

172. किसी चालक का प्रतिरोध निर्भर करता है
(a) चालक की लम्बाई पर
(b) चालक के अनुप्रस्थ परिच्छेद के काट पर
(c) चालक की प्रकृति पर
(d) उपर्युक्त सभी कथन सत्य है
उत्तर – (d)

173. किसी विद्युत बल्व का अनुमतांक 220V – 100 W है । जब इसे 110V पर प्रचालित किया जाता है तो इसके द्वारा उपयुक्त शक्ति क्या है ?
(a) 100 W
(b) 75 W
(c) 50 W
(d) 25 W
उत्तर – (c)

174. अगर किसी चालक से 1C आवेश प्रवाहित होने में 1 जूल कार्य हो तो चालक से सिरों के बीच विभवान्तर होगा

(a) 1V
(b) 2V
(c) 3V
(d) 4V
उत्तर – (a)

175. यदि प्रतिरोधक का प्रतिरोध R हो और परिपथ में । सेकेण्ड तक I विद्युत धारा प्रवाहित होती है तो ताप H को व्याक्त किया जाता है
(a) H = IRt
(b) H = I^2R/t
(c) H = I^2Rt
(d) H =Rt/I^2
उत्तर – (c)

176. किसी स्थायी विद्युत धारा I द्वारा समय । में उत्पन्न कमा H की मात्रा क्या है ?
(a) H = Vt
(b) H = VIt
(c) H = VI / t
(d) A = Vt / I
उत्तर – (b)

177. किसी विद्युत स्रोत द्वारा परिपथ में निवेशित शक्ति का मान क्या होगा जब Q आवेश V विभवान्तर पर 1 सेकेण्ड तक प्रवाहित की जाती है
(a) VI
(b) VQ
(c) Qt / V
(d) V/ Qt
उत्तर – (a)

178. 1mA = कितना ?
(a) 10^{-3}A
(b) 10^{-2}A
(c) 10^{-1}A
(d) 10^{-11}A
उत्तर – (a)

179. 1μA = कितना ?
(a) 10^{-5}A
(b) 10^{-4}A
(c) 10^{-7}A

(d) 10^{-6} A

उत्तर – (d)

180. चालक में इलेक्ट्रॉन तभी गमन कर सकता है जब चालक में अनुदिश

(a) विद्युत दाब में कोई अन्तर न हो

(b) विद्युत दाब में अन्तर होता है

(c) विद्युत दाब सभी स्थानों पर समान रहता है

(d) विद्युत दाब का कोई महत्त्व नहीं है

उत्तर – (b)

181. अगर Q आवेश विभवान्तर V से प्रवाहित हो तो किया गया कार्य होगा –

(a) V/Q

(b) Q/V

(c) VQ

(d) V + Q

उत्तर – (c)

182. 1C आवेश के लिए इलेक्ट्रॉनों की संख्या होगी

(a) 6.25×10^{18}

(b) 6.25×10^{20}

(e) 6.25×10^{29}

(d) इनमें से कोई नहीं

उत्तर – (a)

183. 100W का विद्युत बल्य 250V के विद्युत मेन से जोड़ा जाता है तब बल्ब से प्रवाहित धारा का मान है

(a) 0.1 A

(b) 0.4A

(c) 2.5 A

(d) 10 A

उत्तर – (b)

184. जब किसी चालक तार से विद्युत धारा प्रवाहित होती है तो गतिशील कण होते हैं

(a) परमाणु

(b) आयन

(c) प्रोटॉन

(d) इलेक्ट्रॉन

उत्तर – (d)

LIMITED TIME OFFER

Unlock Detailed Explanations 🔓

✓ Get Full Explanations for every question.

✓ Understand the 'Why' behind the answer.

✓ Instant access to the complete 243-page PDF.

This page only shows Q&A. For deep learning, get the full PDF.

BUY FULL PDF NOW

Class 10 Science Important MCQs In Hindi All Chapters

CHAPTER NO	CHAPTER NAME
1	रासायनिक अभिक्रियाएँ और समीकरण
2	अम्ल, क्षार एवं लवण
3	धातु और अधातु
4	कार्बन और इसके यौगिक
5	तत्वों के आवर्त वर्गीकरण
6	जैव-प्रक्रम
7	नियंत्रण एवं समन्वय
8	जीव जनन कैसे करते है
9	अनुवांशिकता एवं जैव विकास
10	प्रकाश-परावर्तन एवं अपवर्तन
11	मानव-नेत्र एवं रंगबिरंगी दुनियाँ
12	विद्युत
13	विद्युत धारा का चुम्बकीय प्रभाव
14	उर्जा के स्रोत
15	हमारा पर्यावरण

16	प्राकृतिक संसाधनों का प्रबंधन

PLEASE SHARE THIS

YOU MIGHT ALSO LIKE

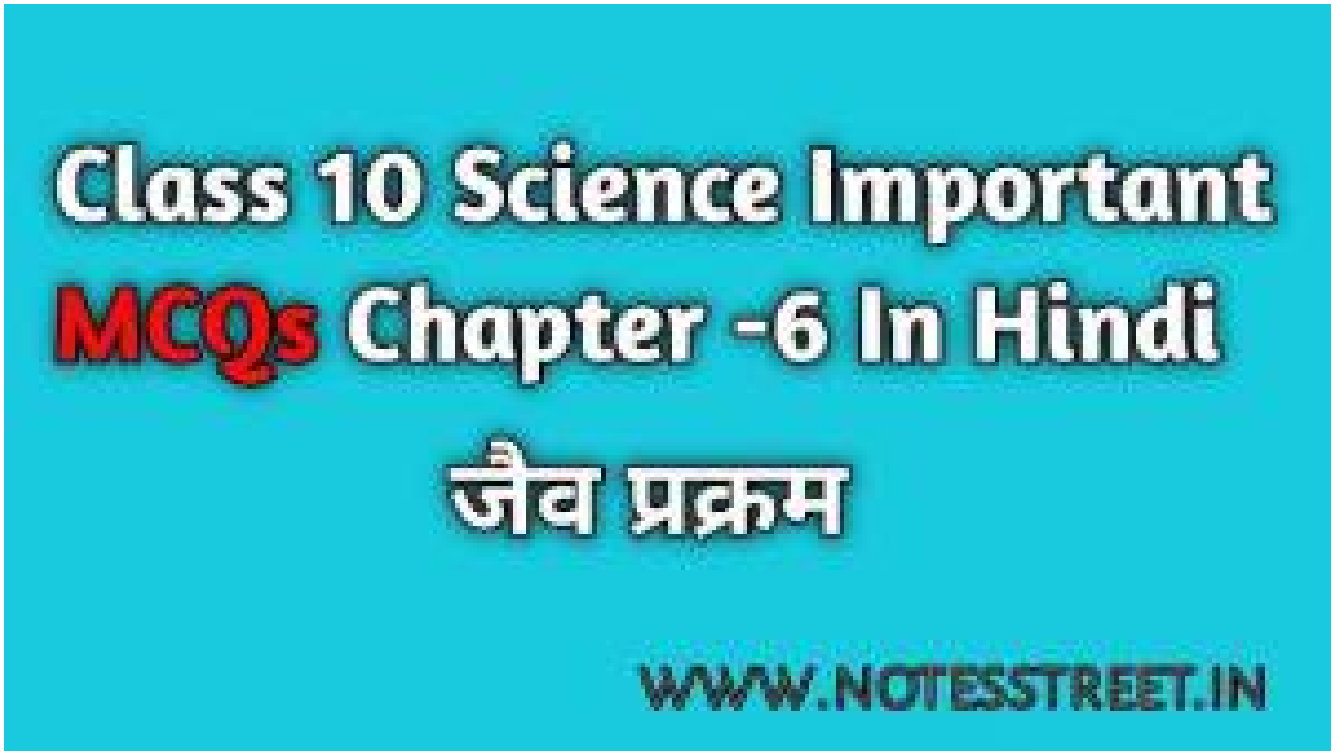

Class 10 Science Important MCQs Chapter – 6 जैव प्रक्रम

August 15, 2020

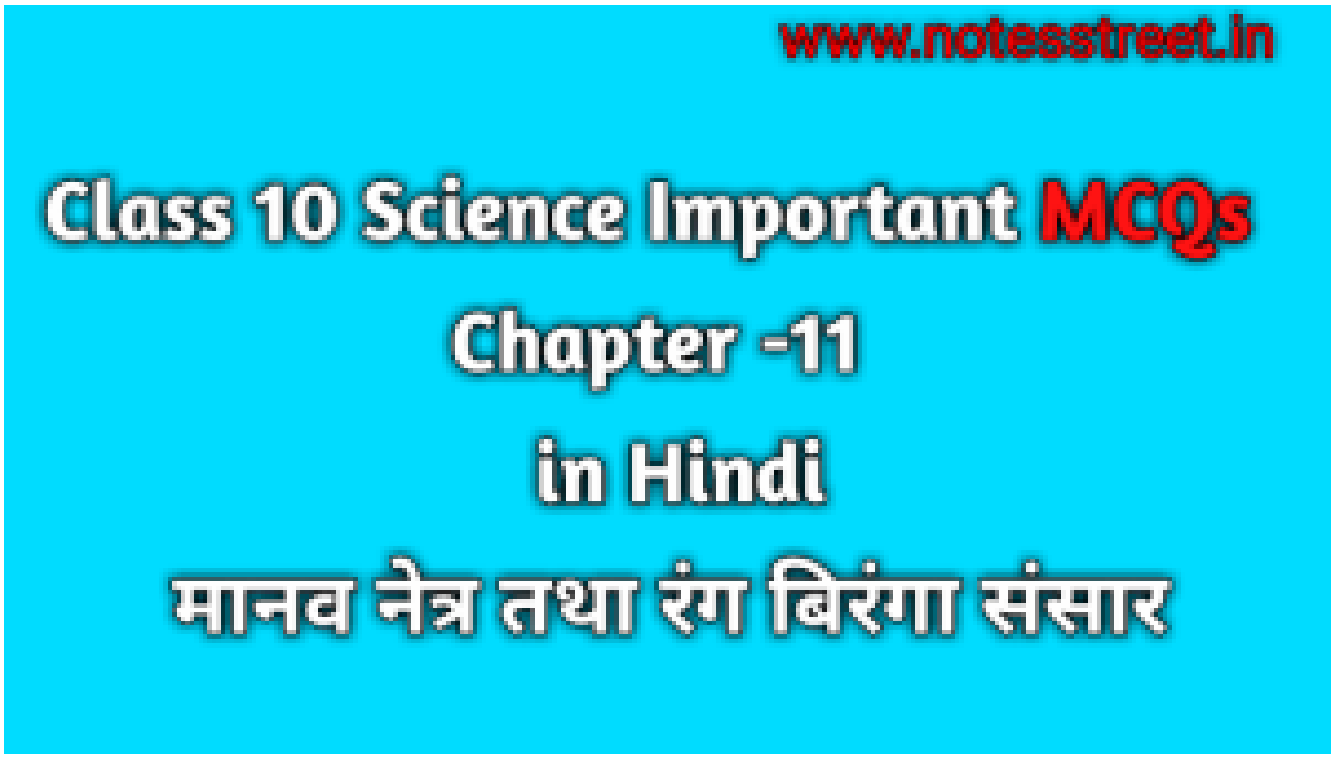

Class 10 Science Important MCQs Chapter – 11 मानव नेत्र तथा रंग बिरंगा संसार

September 14, 2020

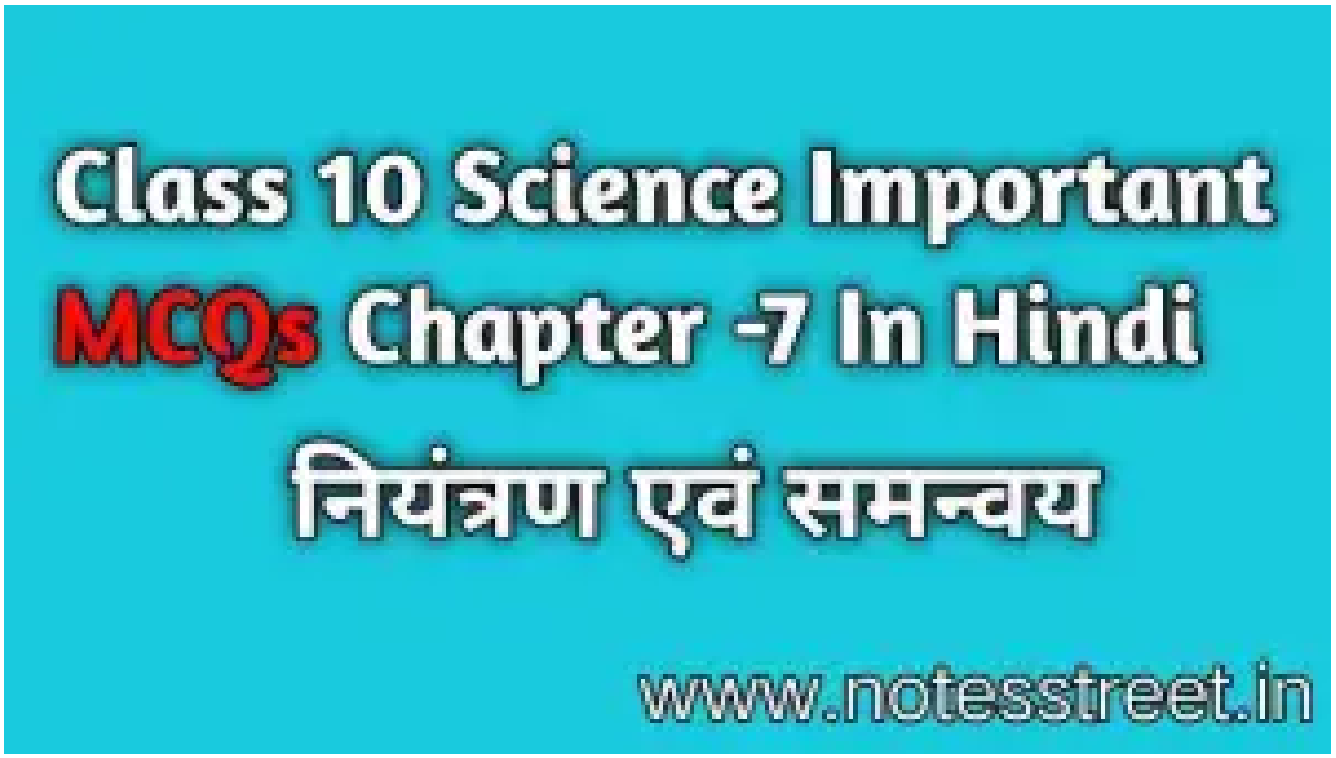

Class 10 Science Important MCQs Chapter – 7 नियंत्रण एवं समन्वय

August 16, 2020