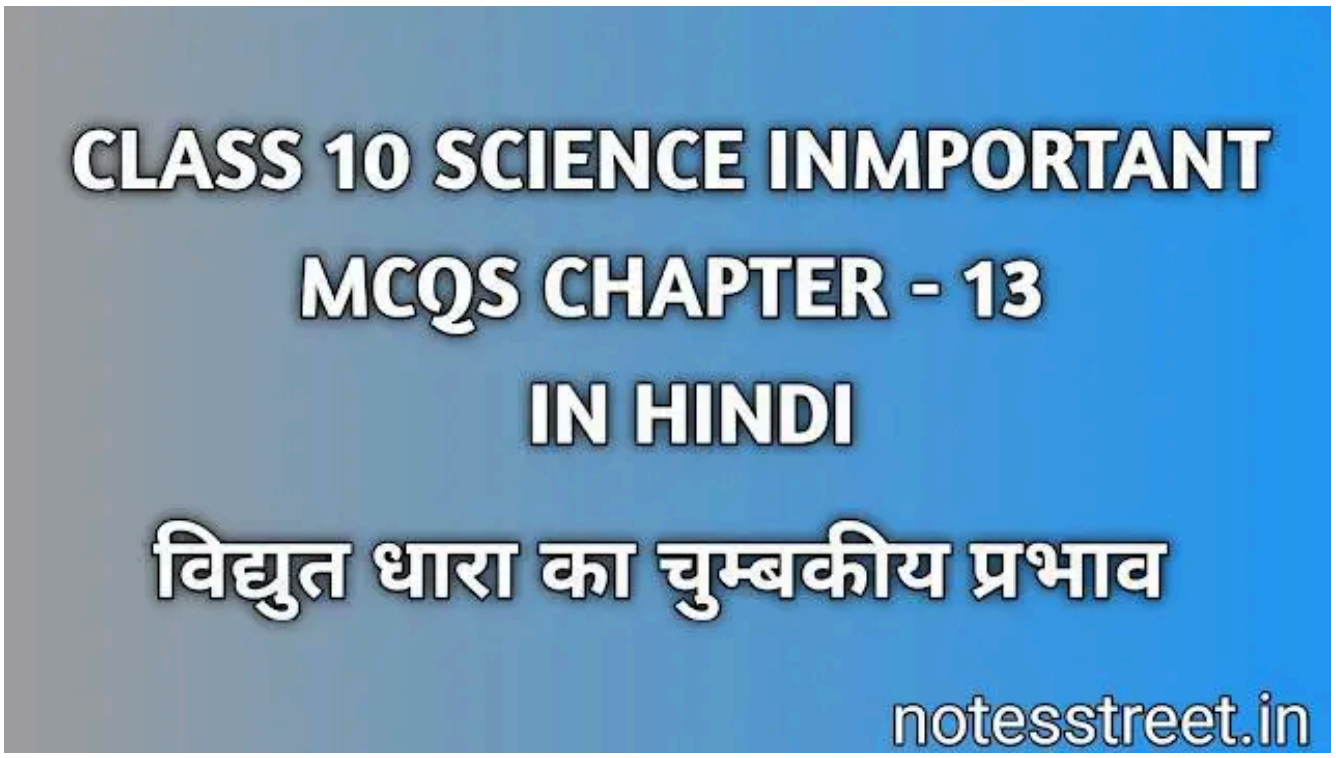

Class 10 Science Important MCQs Chapter -13 विद्युत धारा का चुंबकीय प्रभाव

Class 10 Science V.V.I MCQs

Here we are providing **Class 10 Science Important MCQs Chapter – 13 विद्युत धारा का चुंबकीय प्रभाव** because its very important for Class 10 students as we all know that every board exam question has MCQs so that students should practice these questions so that students can get good marks in board. Class 10 Science Important MCQs Chapter – 13 विद्युत धारा का चुंबकीय प्रभाव is an extremely important and its also a year in which students learn the fundamentals of concepts that help them lay a solid foundation for their higher education. Here we are providing in Class 10 Science Important MCQs Chapter – 13 विद्युत धारा का चुंबकीय प्रभाव 100+questions so that students practice more and more. If you want class 10 Science Notes Then **Click Here**

LIMITED TIME OFFER

Unlock Detailed Explanations 🔓

✓ Get Full Explanations for every question.

✓ Understand the 'Why' behind the answer.

✓ Instant access to the complete 243-page PDF.

This page only shows Q&A. For deep learning, get the full PDF.

BUY FULL PDF NOW

Class 10 Science Important MCQs Chapter – 13 विद्युत धारा का चुंबकीय प्रभाव

1. किसी ac जनित्र तथा dc जनित्र में एक मूलभूत अन्तर यह है कि
(a) ac जनित्र में विद्युत चुम्बक होता है जबकि dc मोटर में स्थायी चुम्बक होता है
(b) dc जनित्र उच्च वोल्टता को उत्पन्न करता है
(c) ac जनित्र भी उच्च वोल्टता को प्रदर्शित करता है
(d) ac जनित्र में सर्पी वलय होते हैं जबकि dc जनित्र में दिक् परिवर्तक होते हैं
उत्तर – (d)

2 . हमारे घरो में जो विद्युत सप्लाई होती है वह
(a) 220 वोल्ट पर दिष्ट धारा होती है
(b) 12 वोल्ट पर दिष्ट धारा होती है
(c) 220V वोल्ट पर प्रत्यावर्ती धारा होती है
(d) 12 वोल्ट पर प्रत्यावर्ती धारा होती है
उत्तर – (c)

3 . 1kwh होता है
(a) 3600J
(b) 3.6×10^6J
(c) 36×10^6J
(d) 36 J
उत्तर – (b)

4. यदि नरम लोहे को धारावाही कुण्डली के गर्भ में रख दिया जाए तो क्या बनता है ?
(a) सामान्य चुम्बक
(b) विद्युत चुम्बक
(c) कोई चुम्बक नहीं
(d) इनमें से कोई नहीं
उत्तर – (b)

5. विद्युत फ्यूज काम करता है
(a) धारा के ऊष्मीय प्रभाव पर
(b) धारा के चुम्बकीय प्रभाव पर

(c) धारा के रासायनिक प्रभाव पर
(d) किसी पर भी नहीं
उत्तर – (a)

6. विद्युत धारा उत्पन्न करने की युक्ति को कहते है
(a) जनित्र
(b) गैल्वेनोमीटर
(c) मीटर
(d) मोटर
उत्तर – (a)

7. बैटरी से किस प्रकार की धारा प्राप्त होती है ?
(a) दिष्ट्
(b) प्रत्यावर्ती
(c) a और b दोनों
(d) इनमें से कोई नहीं
उत्तर – (a)

8. विद्युत फ्यूज विद्युत धारा के किस प्रभाव पर कार्य करता है ?
(a) उष्मीय
(b) चुम्बकीय
(c) रासायनिक
(d) इनमें से कोई नहीं
उत्तर – (a)

9. विद्युत फ्यूज बचाता है :
(a) अतिभरण में बहने वाली उच्च धारा के खतरे से
(b) लघुपथन में बहने वाली उच्च धारा के खतरे स
(c) a और b दोनों में
(d) इनमें से कोई नहीं
उत्तर – (b)

10. घरों में विद्युत से दुर्घटना किस कारण से होती है
(a) सॉर्ट सर्किट से
(b) फ्यूज तार से
(c) उच्च घारा प्रवाह से
(d) इनमें से कोई नहीं
उत्तर – (b)

11. फ्लेमिंग के वाम हस्त नियम में अंगूठा किसकी दिशा को संकेत करता है ?

(a) धारा का
(b) चुम्बकीय क्षेत्र का
(c) बल का
(d) इनमें से कोई नहीं
उत्तर – (c)

12. विद्युत मोटर परिवर्तित करता है :
(a) यांत्रिक ऊर्जा को विद्युत ऊर्जा में
(b) विद्युत को यांत्रिक ऊर्जा में
(c) रासायनिक ऊर्जा को विद्युत कर्जा में
(d) विद्युत ऊर्जा को रासायनिक ऊर्जा में
उत्तर – (b)

13. एक छड़ चुम्बक को दो बराबर भागों में बाँटने पर चुम्बकीय धुव पर क्या प्रभाव पड़ता है ?
(a) चुम्बकीय ध्रुव अलग हो जाते है
(b) चुम्बकीय ध्रुव अलग नहीं होते हैं
(c) चुम्बकीय क्षेत्र शून्य हो जाता हैं
(d) इनमें से कोई नहीं
उत्तर – (b)

14. चुम्बकीय क्षेत्र का मान धुरुओ पर
(a) महत्तम
(b) निम्नतम
(c) सामान्य
(d) इनमें से कोई नहीं
उत्तर – (a)

15. किसी चालक तार से विद्युत धारा प्रवाहित करने पर तार के ऊपर तथा नीचे चुम्बकीय क्षेत्र पैदा होता है
(a) समान प्रकार के
(b) विपरीत प्रकार के
(c) किसी भी प्रकार के नहीं
(d) इनमें से कोई नहीं
उत्तर – (b)

16. फ्लेमिंग के दाएँ हस्त नियम में अंगूठा किस दिशा की ओर संकेत करता है
(a) चालक की गति की दिशा
(b) धारा की दिशा
(c) चुम्बकीय क्षेत्र की दिशा
(d) इनमें से कोई नहीं

उत्तर – (a)

17. चालक तार के नीचे चुम्बकीय सूई स्थित हो और विद्युत धारा उत्तर से दक्षिण की ओर प्रवाहित होती है तो चुम्बकीय सूई का उत्तरी ध्रुव किधर विक्षेपित होगा

(a) पश्चिम की ओर
(b) पूरब की ओर
(c) दक्षिण ओर
(d) इनमें से कोई नहीं

उत्तर – (b)

18. ऑरस्टेड के प्रयोग में चालक तार के नीचे चुम्बकीय सूई रख दिया जाए और तार में विद्युत धारा दक्षिण से उत्तर की ओर प्रवाहित हो तो सुई का उत्तरी ध्रुव किधर विक्षेपित होगा ?

(a) दक्षिण की ओर
(b) पूरब की ओर
(c) पश्चिम की ओर
(d) इनमें से कोई नहीं

उत्तर – (c)

19. अगर धारावाही सीधे तार से विद्युत धारा उत्तर से दक्षिण की ओर प्रवाहित हो और सूई चुम्बक तार के ऊपर रखी हो तो चुम्बकीय सूई का उत्तर ध्रुव किधर विक्षेपित होगा ?

(a) पश्चिम की ओर
(c) दक्षिण की ओर
(b) पूरब की ओर
(d) इनमें से कोई नहीं.

उत्तर – (a)

20. अगर सूई चुम्बक धारावाही तार के ऊपर हो और विधुत धारा दक्षिण से उत्तर की ओर परवाहित हो तो सूई चुम्बक का उत्तरी ध्रुव किधर विक्षेपित होगा

(a) दक्षिण की ओर
(b) पूरब की ओर
(c) पश्चिम की ओर
(d) इनमें से कोई नहीं

उत्तर – (b)

21. फ्लेमिंग के दक्षिण हस्त अंगूठा नियम से अंगूठा किस दिशा की इंगित करता है ?

(a) धारा की दिशा को
(b) चुम्बकीय क्षेत्र की दिशा को
(c) a और b दोनों
(d) इनमें से कोई नहीं

उत्तर – (a)

22. एक सरल विद्युत परिपथ में एक लम्बे तांबे के तार को दिक् सूचक के ऊपर या उसके सूई के समानांतर रखा गया है जब तार में विद्युत धारा की दिशा उत्क्रमित होती है तो दिक् सूचक के सूई में विशेष होगा

(a) विपरीत दिशा में

(b) ज्यों का त्यों रहेगा

(c) a और b दोनों

(d) इनमें से कोई नहीं

उत्तर – (b)

23. किसी धारावाही तार में विद्युत धारा के परिमाण में वृद्धि कर दिया जाए तो किसी दिए गए बिन्दु पर चुम्बकीय क्षेत्र के परिमाण में क्या होगा ?

(a) वृद्धि होगी

(b) यथावत रहेगी

(c) घटेगी

(d) इनमें से कोई नहीं

उत्तर – (a)

24. किसी चालक से प्रवाहित की गई विद्युत धारा के कारण उत्पन्न चुम्बकीय क्षेत्र चालक से दूर जाने पर

(a) ज्यों का त्यों रहता है

(b) घटता है

(c) बढ़ता है

(d) b और c दोनों

उत्तर – (b)

25. फ्लेमिंग के दक्षिण हस्त अंगुष्ठ नियम में चालक से लिपटी ऊंगलियाँ क्या संकेत करती है ?

(a) क्षेत्र रेखाओं की दिशा

(b) धारा की दिशा

(c) a और b दोनों

(d) इनमें से कोई नहीं

उत्तर – (a)

26 . एक यूनिट विद्युत ऊर्जा का मान है

(a) 3.6×10^3 J

(b) 3.6×10^4 J

(c) 3.6×10^5 J

(d) 3.6×10^6 J

उत्तर – (d)

27. फ्लेमिंग के वामहस्त नियम से बाएँ हाथ का मध्यमा संकेत करती है ?
(a) चालक पर आरोपित विद्युत बल की दिशा
(b) चुम्बकीय क्षेत्र की दिशा
(c) चालक में प्रवाहित विद्युत धारा की दिशा
(d) इनमें से कोई नहीं
उत्तर – (c)

28. चुम्बक के भीतर चुम्बकीय क्षेत्र रेखाओं की दिशा क्या होती है ?
(a) उत्तर ध्रुव से दक्षिण ध्रुव की ओर
(b) दक्षिण ध्रुव से उत्तर ध्रुव की ओर
(c) चुम्बकीय क्षेत्र रेखाओं की दिशा निश्चित नहीं है ,
(d) इनमें से कोई नहीं
उत्तर – (b)

29. यदि विद्युत धारा पूरब से पश्चिम की ओर प्रवाहित हो रही है तो पूर्वी सिरे से अवलोकन करने पर चुम्बकीय क्षेत्र की दिशा तार के लम्बवत्
(a) वामावर्त होगी
(b) दक्षिणावर्तन होगी
(c) कोई निश्चित नहीं है
(d) इनमें से कोई नहीं
उत्तर – (b)

30 . यदि विद्युत धारा पूरब से पश्चिम की ओर प्रवाहित हो रही है तो पश्चिम सिरे से अवलोकन करने पर चुम्बकीय क्षेत्र की दिशा
(a) वामावर्त होगी
(b) दक्षिणावर्त होगी
(c) a और b दोनों
(d) इनमें से कोई नहीं
उत्तर – (a)

31. किसी पास में विद्युत धारा प्रवाहित करने पर पास के अन्दर सभी चुम्बकीय रेखाएँ
(a) विपरीत दिशा में होती है
(b) किसी भी दिशा में होती है
(c) एक ही दिशा में होती है
(d) इनमें से कोई नहीं
उत्तर – (c)

32. निम्न में से कौन सी युक्ति जिसमें विद्युत धारावाही चालक तथा चुम्बकीय क्षेत्रों का उपयोग होता है
(a) माइक्रोफोन का
(b) ध्वनि वास्तारक यंत्र का

(c) विद्युत जनित्र का
(d) सभी का
उत्तर – (d)

33. फैराडे ने बहुत – सी क्रांतिकारी खोज की जिनमें निम्न में से कौन एक है
(a) विद्युत चुम्बकीय प्रेरण
(b) विद्युत अपघटन के नियम
(c) a और b दोनों
(d) इनमें से कोई नहीं
उत्तर – (c)

34. किसी तल पर लम्बवत् विद्युत धारा प्रवाहित हो तो चुम्बकीय क्षेत्र क्या निरूपित करेगा ?
(a) सकेन्द्रीय वृत्त रेखाओं को
(b) रैखिक क्षेत्र रेखाओं को
(c) a और b दोनों
(d) इनमें से कोई नहीं
उत्तर – (a)

35. अगर लम्बवत् धारा ऊपर से नीचे बहती है तो क्षेत्र रेखाओं की दिशा क्या होगी ?
(a) घड़ी के सूई के घुमने के विपरीत दिशा में
(b) घड़ी के सूई के घुमने की दिशा में
(c) a और b दोनों
(d) इनमें से कोई नहीं
उत्तर – (b)

36. अगर लम्बवत विद्युत धारा नीचे से ऊपर की ओर प्रवाहित हो तो क्षेत्र की दिशा क्या होगी ?
(a) घड़ी के सूई के घुमने की विपरीत दिशा में
(b) घड़ी सूई की दिशा में होगी
(c) a और b दोनों
(d) इनमें से कोई नहीं
उत्तर – (a)

37. किसी दिए गए बिन्दु पर उत्पन्न क्षेत्र का परिमाण तार में प्रवाहित धारा के साथ क्या सम्बन्ध होगा ?
(a) व्युत्क्रमानुपाती का
(b) अनुक्रमानुपाती का
(c) कोई संबंध नहीं
(d) इनमें से कोई नहीं
उत्तर – (b)

38. किसी नियत धारा द्वारा तार से दूरी बढ़ने पर चुम्बकीय क्षेत्र का मान

(a) घटता है
(b) बढ़ता है
(c) स्थिर रहता है
(d) इनमें से कोई नहीं
उत्तर – (a)

39. धारावाही परिनालिका के सिरे पर विद्युत धारा घड़ी की सूई के घुमने की विपरीत दिशा में बहती हुई मालूम पड़े तो परिनालिका की इस सिरे पर कौन – सा ध्रुव होगा
(a) दक्षिण ध्रुव
(b) उत्तर ध्रुव
(c) कोई ध्रुव नहीं
(d) इनमें से कोई नहीं
उत्तर – (b)

40. मधुमक्खियों के उदर में किस प्रकार के क्रिस्टल पाए जाते हैं ?
(a) मैग्नेटाइट
(b) कैलसियम कार्बोनेट
(c) खरिया
(d) इनमें से कोई नहीं
उत्तर – (a)

41. सीधे चालक तार पर चुम्बकीय क्षेत्र से लगने वाले बल की दिशा जानने के लिए उपयोग किया जा सकता है ?
(a) फ्लेमिंग के बाएं हाथ के नियम
(b) फ्लेमिंग के दाएं हाथ के नियम
(c) दक्षिण हस्त नियम का
(d) मैक्सवेल स्क्रू का
उत्तर – (a)

42. चुम्बकीय क्षेत्र में एक धारावाहक छड़ पर लगने वाला बल किसके लम्बवत् होता है ?
(a) छड़ की लम्बाई के
(b) चुम्बकीय क्षेत्र के
(c) a और b दोनों
(d) इनमें से कोई नहीं
उत्तर – (c)

43. विद्युत धारावाही तार के दो विपरीत छोर पर चुम्बकीय बल रेखाओं की दिशाएँ
(a) घड़ी के सूई की दिशा में
(b) घड़ी के सूई के घुमने की दिशा के विपरीत दिशा में

(c)एक सिरे पर चुम्बकीय बल रेखाओं की दिशा में क्लॉक वाइज दिशा और दूसरे विपरीत सिरे पर एन्टी क्लॉक वाइज
(d) अनिश्चित है
उत्तर – (c)

44. ताम्बे के तार की एक आयताकार कुण्डली किसी चुम्बकीय क्षेत्र में घूर्नो गति कर रही है । इस कुण्डली में प्रेरित विद्युत धारा की दिशा में कितने परिभ्रमण के बाद परिवर्तन होता है ?
(a) दो
(b) एक
(c) आधा
(d) चौधाई
उत्तर – (c)

45. एक सीधे धारावाही के पास दायें – बायें या बिन्दु A और B है । दिक सूची में A और B के पास ले जाने पर दिक् – सूची के सूई में
(a) कोई विक्षेप नहीं होगा
(b) दोनों विन्दुओं पर एक ही दिशा में विच्छेप होगा
(c) दोनों बिन्दुओं पर विपरीत दिशा में विच्छेप होगा
(d) दोनों बिन्दुओं पर विक्षेप का अन्तर 90 ° होगा
उत्तर – (c)

46. लम्बी धारावाही परिनालिका के मध्य में चुम्बकीय क्षेत्र रेखाएँ
(a) वृत्ताकार होती है
(b) परिनालिका के अक्ष के समांतर होती है
(c) अक्ष पर दोनों रेखाएँ अत्यधिक सही होती है
(d) अक्ष के लम्बवत् होती है
उत्तर – (b)

47. यदि एक छड़ चुम्बक को तीन भागों में काट दिया जाए तो उसमें ध्रुवों की कुल संख्या हो जाएगी ?
(a) 2
(b) 3
(c) 4
(d) 6
उत्तर – (d)

48. इनमें से कौन एक दूसरे से अलग है ।
(a) जुल
(b) किलोवाट घंटा
(c) अर्ग
(d) वाट

उत्तर – (d)

49. चुम्बकीय क्षेत्र का मानक टेसला किसने दिया ?
(a) हेंस क्रिश्चियन
(b) ऑर्सटेड
(b) न्यूटन
(c) ओम
उत्तर – (b)

LIMITED TIME OFFER

Unlock Detailed Explanations 🔓

✓ Get Full Explanations for every question.

✓ Understand the 'Why' behind the answer.

✓ Instant access to the complete 243-page PDF.

This page only shows Q&A. For deep learning, get the full PDF.

BUY FULL PDF NOW

50. घरों में विद्युत ऊर्जा सप्लाई होता है
(a) 200 Hz , 50V
(b) 50 Hz , 220V
(c) 100 Hz , 200V
(d) 20Hz , 220V
उत्तर – (b)

51. किसी वृत्ताकार कुण्डली में ' फेरों की संख्या ' बढ़ा दी जाए और विद्युत धारा प्रवाहित की जाए तो उत्पन्न चुम्बकीय क्षेत्र का परिमाण :
(a) एक फेरे की अपेक्षा कम होगा
(b) बढ़ जायेगा
(c) पूर्ववत् रहेगा
(d) विपरीत दिशा में होगा
उत्तर – (b)

52. विद्युत चुम्बकीय प्रेरण की परिघटना
(a) किसी वस्तु को आवेशित करने की प्रक्रिया है
(b) किसी कुण्डली में विद्युत धारा प्रवाहित होने के कारण चुम्बकीय क्षेत्र उत्पन्न करने की प्रक्रिया
(c) कुण्डली तथा चुम्बक के बीच आपेक्षिक गति के कारण कुण्डली में प्रेरित विधुत धारा उत्पन्न करेगा
(d) किसी विद्युत मोटर की कुण्डली को घूर्णन करने की क्रिया है
उत्तर – (c)

53. सीधे धारावाही तार की चुम्बकीय क्षेत्र रेखाएँ
(a) सरल रेखीय होती है
(b) सकेन्द्री वृत्ताकार होता है
(c) चक्राकार होती है
(d) इनमें से कोई नहीं
उत्तर – (b)

54. घरेलु विद्युत परिपथ में फ्यूज लगाया जाता है
(a) विद्युन्मय तार में
(b) उदासीन तार में
(c) किसी भी तार में
(d) किसी में नहीं
उत्तर – (a)

55. चुम्बकीय क्षेत्र रेखाओं की निकटता बतलाता है
(a) क्षेत्र का मान
(b) मान और दिशा
(c) क्षेत्र की दिशा
(d) इनमें से कोई नहीं
उत्तर – (a)

56. विद्युत धारा की दिशा में परिवर्तन होने पर चुम्बकीय क्षेत्र की
(a) बदल जाती है
(b) कोई परिवर्तन नहीं होता है
(c) चालक तार जिससे धारा बहती है दिक् सूचक पर कोई प्रभाव नहीं डालती है
(d) दिक् सूचक चुम्बकीय क्षेत्र से स्वतंत्रत रहता है
उत्तर – (a)

57. किसी परिनालिका के भीतर सभी बिन्दुओं पर चुम्बकीय क्षेत्र
(a) समान होता है
(b) असमान होता है ।
(c) कोई निश्चित नहीं है
(d) सभी कथन सत्य है

उत्तर – (a)

58. विद्युत जनित्र में यांत्रिक ऊर्जा को किस ऊर्जा में परिवर्तित करता है ?
(a) प्रकाश ऊर्जा
(b) स्थितिज ऊर्जा
(c) विद्युत ऊर्जा
(d) गतिज ऊर्जा
उत्तर – (c)

59.पशिचम की ओर परछेपित कोई धनावेशित कण (α– कण) किसी छेत्र द्वारा उत्तर की दिशा है
(a) दक्षिण की ओर
(b) पूर्व की ओर
(c) अधोमुखी
(d) ऊपरीमुखी
उत्तर – (d)

60. किसी प्रोटॉन का निम्नलिखित में से कौन सा गुण किसी चुम्बकीय क्षेत्र में मुक्त गति करते समय परिवर्तित हो जाता है
(a) द्रव्यमान एवं वेग
(b) चाल एवं वेग
(c) वेग एवं संवेग
(d) इनमें से कोई नहीं
उत्तर – (b)

61. कोई इलेक्ट्रॉन किसी चुम्बकीय क्षेत्र मे क्षेत्र के लम्बवत प्रवेश करता है तो इलेक्ट्रॉन पर आरोपित बल की दिशा क्या है ?
(a) दायीं ओर
(b) बायीं ओर
(c) कागज से बाहर की ओर
(d) कागज के भीतर की ओर
उत्तर – (d)

62. ac मोटर के कुण्डली के दोनों सिरों पर होते हैं
(a) अर्द्ध – वलय
(b) पूर्ण – वलय
(c) a और . b दोनों
(d) आयताकार रचना
उत्तर – (b)

63. dc मोटर के कुण्डली के दोनों सिरों पर होते हैं

(a) अर्धवलय
(b) पूर्ण वलय
(c) a और b दोनों
(d) आयताकार रचना
उत्तर – (a)

64. निम्नलिखित में से कौन किसी लम्बे विद्युत धारावाही तार के निकट के चुम्बकीय क्षेत्र का सही वर्णन करता है
(a) चुम्बकीय क्षेत्र की क्षेत्र रेखाएँ तार के लम्बवत् होती है
(b) चुम्बकीय क्षेत्र की क्षेत्र रेखाएँ तार के समांतर होती है
(c) चुम्बकीय क्षेत्र की क्षेत्र रेखाएँ आरीय होती है जिनका उद्भव तार से होता है ।
(d) चुम्बकीय क्षेत्र की सकेन्द्रीय क्षेत्र रेखाओं का केन्द्र तार होता है
उत्तर – (d)

65. किसी चालक तार को चुम्बकीय क्षेत्र में चलने पर उसके सिरों के बीच विभवान्तर पैदा होने की घटना कहलाती है
(a) चुम्बकीय प्रेरण
(b) विद्युतीय प्रेरण
(c) विद्युत चुम्बकीय
(d) इनमें से कोई नहीं
उत्तर – (c)

66. आपके पास एक चालक तार की कुण्डली है । आप कुण्डली में धारा उत्पन्न नहीं कर सकते हैं
(a) स्थिर कुण्डली के पास चुम्बक चला कर
(b) स्थिर कुण्डली को चला कर
(c) दोनों को चला कर
(d) दोनों को स्थिर रखकर
उत्तर – (d)

67. चुम्बकीय क्षेत्र रेखाएं
(a) एक दूसरे को परस्पर प्रतिच्छेद करती है
(b) एक दूसरे के समांतर होती है
(c) एक दूसरे को परिच्छेद नहीं करती है
(d) बल रेखा नल (null) बिन्दु दिक सूचक ऊर्ध्वाधर रहती है
उत्तर – (c)

68. किसी चुम्बक के चारों ओर वह क्षेत्र जिसमें उसके बल का संसूचन किया जा सकता है , वह क्या कहलाता है ?
(a) बल रेखाएँ
(d) सभी कथन सत्य है ।

(c) चुम्बकीय प्रेरण
(d) चुम्बकीय क्षेत्र
उत्तर – (b)

69. विद्युत चुम्बक बनाने के लिए प्रायः किस पदार्थ के छड़ का उपयोग होता है ?
(a) इस्पात
(b) पीतल
(c) नरम लोहा
(d) इनमें से कोई नहीं
उत्तर – (c)

70. विद्युत चुम्बकीय प्रेरण की खोज किसने किया ?
(a) फैरोडे ने
(b) मैक्सवेल ने
(c) एम्पियर ने
(d) फ्लेमिंग ने
उत्तर – (a)

71. व्यावसायिक मोटरों में किस प्रकार के चुम्बक का उपयोग होता है ।
(a) स्थायी चुम्बक
(b) विद्युत चुम्शक
(c) सामान्य चुम्बक
(d) नाल चुम्बक
उत्तर – (b)

72. जब कुण्डली की गति की दिशा चुम्बकीय क्षेत्र की दिशा की लम्बवत होती है तब कुण्डली में उत्पन्न प्रेरित विद्युत धारा
(a) अधिकतम होती है ।
(b) न्यूनतम होती है
(c) सामान्य है
(d) शून्य है
उत्तर – (a)

73. किसी चुम्बकीय क्षेत्र में धारावाही तार रखने पर इस पर –
(a) बल लगता है
(b) बल नहीं लगता है
(c) क्षेत्र की दिशा को लम्बवत् धारा रहने पर बल महत्तम होता है
(d) इनमें से कोई नहीं
उत्तर – (c)

74. एक सीधे धारावाही तार में धारा पूरब की ओर है । इसके ऊपर के बिन्दु पर चुम्बकीय क्षेत्र की दिशा होती है

(a) पूरब की ओर

(b) पश्चिम की ओर

(c) उत्तर की ओर

(d) दक्षिण की ओर

उत्तर – (d)

75. विद्युत धारावाही तार के प्रत्येक बिन्दु से उत्पन्न चुम्बकीय क्षेत्र रेखाएं पाश के दो बिन्दुओं पर जो आमने – सामने है

(a) वर्गाकार प्रतीत होती है

(b) वृत्ताकार प्रतीत होती है

(c) सरल रेखा के रूप में प्रतीत होती है

(d) समांतर रेखा के रूप में प्रतीत होती है

उत्तर – (b)

76. विद्युत धारावाही तार के प्रत्येक बिन्दु से उत्पन्न चुम्बकीय क्षेत्र रेखाएं पाश (लूप) के केन्द्र पर

(a) सरल रेखा जैसी प्रतीत होती है

(b) वक्र रेखा जैसी प्रतीत होती है

(c) बड़े वृत्त के चाप जैसी प्रतीत होती है

(d) लम्बवत प्रतीत होती है

उत्तर – (a)

77. जब विद्युत धारा की दिशा चुम्बकीय क्षेत्र की दिशा के लम्बवत है । तो आरोपित बल का परिमाप

(a) निम्नतम होता है

(b) अधिकतम होता है ।

(c) शून्य होता है

(d) सभी कधन सत्य है ,

उत्तर – (b)

78. सही विकल्प चुनिए – किसी विद्युत धारावाही सीधी लम्बी परिनालिका के भीतर चुम्बकीय क्षेत्र

(a) शून्य होता है

(b) सिरे पर घटता है

(c) सिरे की ओर जाने पर बढ़ता है

(d) सभी बिन्दुओं पर समान है

उत्तर – (d)

79. किसी धारावाही कुण्डली के गर्भ में चुम्बकीय पदार्थ को रखने पर किस प्रकार का क्षेत्र उत्पन्न किया जाता है ?

(a) दुर्बल चुम्बकीय क्षेत्र

(b) सामान्य चुम्बकीय क्षेत्र
(c) प्रबल चुम्बकीय क्षेत्र
(d) इनमें से कोई नहीं
उत्तर – (c)

80. शरीर के अन्दर विद्यमान चुम्बकीय क्षेत्र किस आधार पर प्राप्त किए जाते हैं
(a) विभिन्न अंगों में प्रतिबिम्ब
(b) विभिनन अंगों रोग
(c) हृदय की गति
(d) इनमें से कोई नहीं
उत्तर – (a)

81. हमारे शरीर के तंत्रिका कोशिकाओं में बहने वाली अत्यन्त दुर्बल आयन धाराएं उत्पन्न करती है
(a) विद्युतीय क्षेत्र
(b) चुम्बकीय क्षेत्र
(c) a और b दोनों
(d) इनमें से कोई नहीं
उत्तर – (b)

82. किसी चुम्बक के चारों ओर का क्षेत्र जिसमें आकर्षण – प्रतिकर्षण बलों के प्रभाव का अनुभव किया जा सकता है , वह कहलाता है
(a) विद्युतीय क्षेत्र
(b) चुम्बकीय क्षेत्र
(c) चुम्बकीय बल
(d) इनमें से कोई नहीं
उत्तर – (b)

83. विद्युत और चुम्बकत्व के परस्पर संबंध को सबसे पहले किस वैज्ञानिक ने प्रमाणित किया था ?
(a) एच ० सी ० आसट्रेड ने
(b) फैराडे ने
(c) फ्लेमिंग ने
(d) एम्पियर ने
उत्तर – (a)

84. बेलन के आधार में लिपटे तार के अनेक वृत्ताकार फेरों की कुंडली को क्या कहा जाता है ?
(a) वृत्ताकार कुण्डली
(b) परिनालिका
(c) a और b दोनों
(d) इनमें से कोई नहीं
उत्तर – (b)

85. चुम्बकीय क्षेत्र की तीव्रता का मात्रक है
(a) आस्टेड
(b) टेसला
(c) a और b दोनों
(d) इनमें से कोई नहीं
उत्तर – (c)

86. विद्युत जनित्र गतिमान चुम्बकों के किस प्रभाव पर आधारित है
(a) विद्युतीय
(b) चुम्बकीय
(c) a और b दोनों
(d) इनमें से कोई नहीं
उत्तर – (a)

87. चुम्बक के सजातीय ध्रुवों के बीच होता है
(a) आकर्षण
(b) प्रतिकर्षण एवं आकर्षण दोनों
(c) प्रतिकर्षण
(d) इनमें से कोई नहीं
उत्तर – (c)

88. चुम्बक के विजातीय ध्रुवों के बीच होता है
(a) आकर्षण
(b) प्रतिकर्षण
(c) a और b दोनों
(d) इनमें से कोई नहीं
उत्तर – (a)

89. स्वतंत्रतापूर्वक हवा में लटकी क्षैतिज चुम्बक हमेशा रहती है
(a) पूरब – पश्चिम दिशा में
(b) किसी भी दिशा में
(c) उत्तर – दक्षिण दिशा में
(d) इनमें से कोई नहीं
उत्तर – (c)

90. स्वतंत्रतापूर्वक चुम्बक को लटकाने पर हमेशा उसका उत्तरी ध्रुव उत्तर दिशा में ही रहता है । अत : पृथ्वी चुम्बक का उत्तरी ध्रुव किस ओर
(a) भौगोलिक दक्षिण दिशा में
(b) भौगोलिक पूरब दिशा में

(c) भौगोलिक पश्चिम दिशा में
(d) किसी भी दिशा में नहीं
उत्तर – (a)

91. चुम्बक के दो ध्रुवों के बीच की दूरी को कही जाती है
(a) चुम्बक की लम्बाई
(b) चुम्बक की सार्थक लम्बाई
(c) चुम्बक की आभासी लम्बाई
(d) इनमें से कोई नहीं
उत्तर – (b)

92. चुम्बकीय क्षेत्र इस प्रकार की राशि है जिसके
(a) परिमाण होते हैं
(b) दिशा होते हैं
(c) a और b दोनों
(d) इनमें से कोई नहीं
उत्तर – (c)

93. किसी चुम्बक क्षेत्र की दिशा वह मानी जाती है जिसमें अनुदिश दिक सूचक का कौन – सा ध्रुव उस क्षेत्र के अन्दर गमन करता है
(a) उत्तर ध्रुव
(b) दक्षिण ध्रुव
(c) और b दोनों
(d) इनमें से कोई नहीं
उत्तर – (a)

94. चुम्बक के भीतर चुम्बकीय क्षेत्र रेखाओं की दिशा है
(a) उत्तर ध्रुव से दक्षिण ध्रुव की ओर
(b) दक्षिण ध्रुव से उत्तर ध्रुव की ओर
(c) a और b दोनों
(d) इनमें से कोई नहीं
उत्तर – (b)

95 . चुम्बकीय क्षेत्र रेखाएँ चुम्बक के बाहर किस दिशा में है
(a) उत्तर ध्रुव से दक्षिण ध्रव की ओर
(b) दक्षिण ध्रुव से उत्तर ध्रुव की ओर
(c) a और b दोनों
(d) इनमें से कोई नहीं
उत्तर – (a)

96. चुम्बकीय बल रेखाएं खींची जा सकती है
(a) लोहे के बुरादे द्वारा
(b) दिक् सूचक द्वारा
(c) a और b दोनों
(d) इनमें से कोई नहीं
उत्तर – (c)

97. जहाँ पर चुम्बकीय क्षेत्र रेखाएं काफी धनी होती है वहाँ चुम्बकीय क्षेत्र होता है
(a) अधिक प्रबल
(b) दुर्बल
(c) सामान्य
(d) इनमें से कोई नहीं
उत्तर – (a)

98. दो चुम्बकीय क्षेत्र रेखाएँ एक दूसरे के
(a) परिच्छेद करती है
(b) परिच्छेद नहीं करती है
(c) समांतर होती है
(d) इनमें से कोई नहीं
उत्तर – (b)

99. अगर दो क्षेत्रिज रेखाएं एक दूसरे को परिच्छेद करे तो पच्छिदन बिन्दु पर दिक् सूचक की सूई
(a) किसी भी दिशा में संकेत करेगी
(b) दो दिशाओं की ओर संकेत करेगी
(c) किसी भी दिशा में संकेत नहीं करेगी
(d) इनमें से कोई नहीं
उत्तर – (b)

100. मानव के वे दो महत्त्वपूर्ण भाग कौन हैं जिनमें चुम्बकीय क्षेत्र का उत्पन्न होना अनिवार्य है
(a) हृदय और मस्तिष्क
(b) हाथ और पौर
(c) मांसपेशियाँ तथा हड्डियाँ
(d) नेत्र तथा दृक तत्रिका
उत्तर – (a)

101. मानव शरीर में उत्पन्न चुम्बकीय क्षेत्र पृथ्वी के चुम्बकीय क्षेत्र के
(a) एक लाख भाग के बराबर है
(b) एक अरब वें भाग के बराबर है
(c) एक करोड वे भाग के बराबर हैं
(d) 10 वें लाख के भाग के बराबर है होते हैं

उत्तर – (b)

102. घरेलु वायरिंग में तीन तार होते हैं । इन तारों में उदासीन तार के रंग

(a) हरा , काला , लाल

(b) लाल

(c) काला

(d) पीला

उत्तर – (c)

103. विद्युत स्टोव , गीजर अथवा निमज्जन तापक आदि साधित्रों में कितने एम्पीयर का फ्यूज लगाया जाता है

(a) 5A

(b) 20 A

(c) 15A

(d) 25A

उत्तर – (b)

104. प्रत्यावर्ती धारा की आवृत्ति कितनी है ?

(a) 100 Hz

(b) 40Hz

(c) 50 Hz

(d) 60Hz

उत्तर – (a)

LIMITED TIME OFFER

Unlock Detailed Explanations 🔓

✓ Get Full Explanations for every question.

✓ Understand the 'Why' behind the answer.

✓ Instant access to the complete 243-page PDF.

This page only shows Q&A. For deep learning, get the full PDF.

BUY FULL PDF NOW

CHAPTER NO	CHAPTER NAME
1	रासायनिक अभिक्रियाएँ और समीकरण
2	अम्ल, क्षार एवं लवण
3	धातु और अधातु
4	कार्बन और इसके यौगिक
5	तत्वों के आवर्त वर्गीकरण
6	जैव-प्रक्रम
7	नियंत्रण एवं समन्वय
8	जीव जनन कैसे करते है
9	अनुवांशिकता एवं जैव विकास
10	प्रकाश-परावर्तन एवं अपवर्तन
11	मानव-नेत्र एवं रंगबिरंगी दुनियाँ
12	विद्युत
13	विद्युत धारा का चुम्बकीय प्रभाव
14	उर्जा के स्रोत
15	हमारा पर्यावरण
16	प्राकृतिक संसाधनों का प्रबंधन

PLEASE SHARE THIS

YOU MIGHT ALSO LIKE

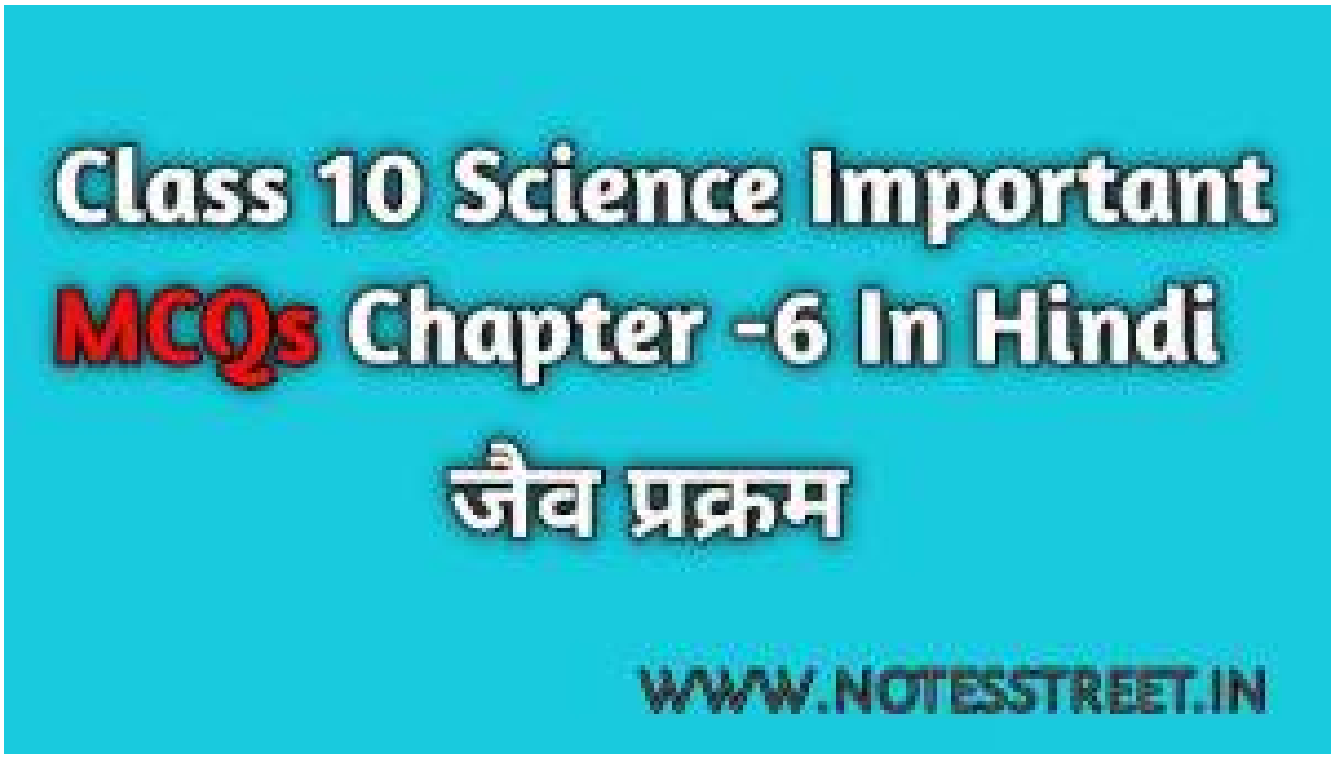

Class 10 Science Important MCQs Chapter – 6 जैव प्रक्रम

August 15, 2020

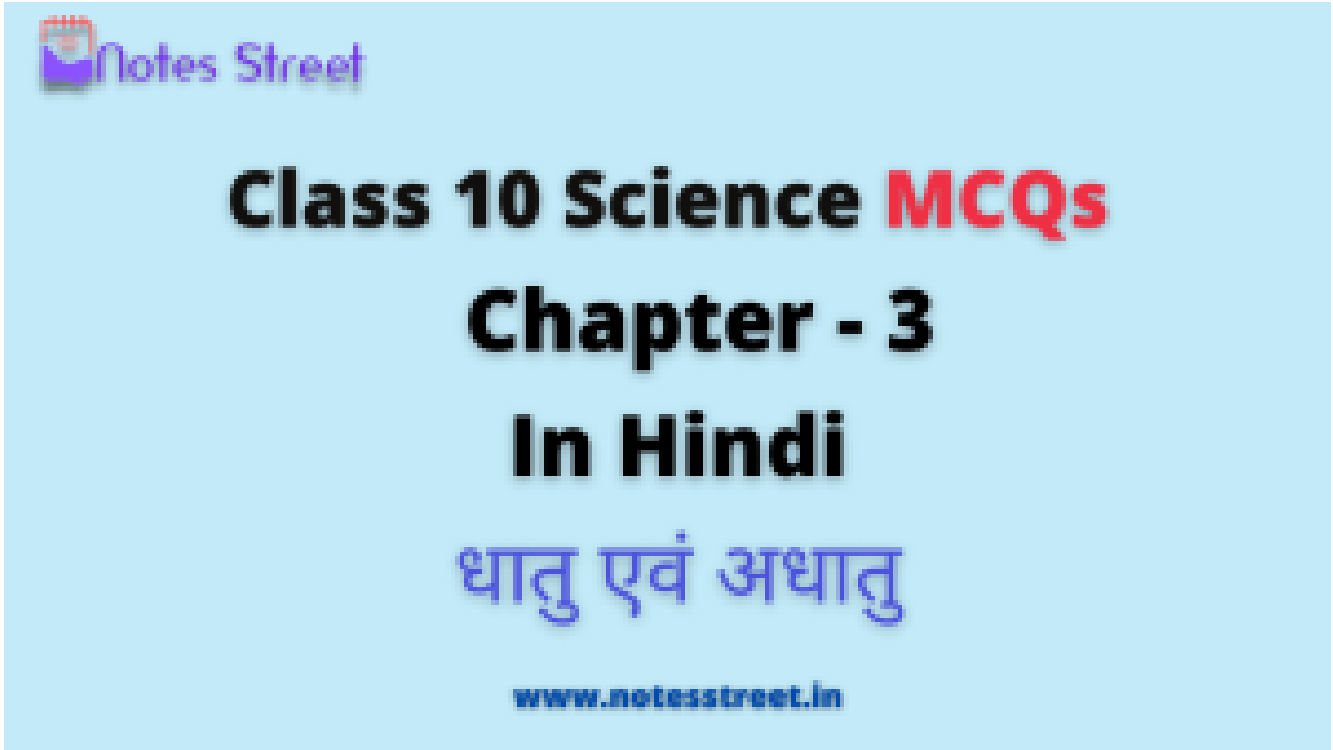

Class 10 Science Important MCQs Chapter – 3 धातु एवं अधातु

July 6, 2020

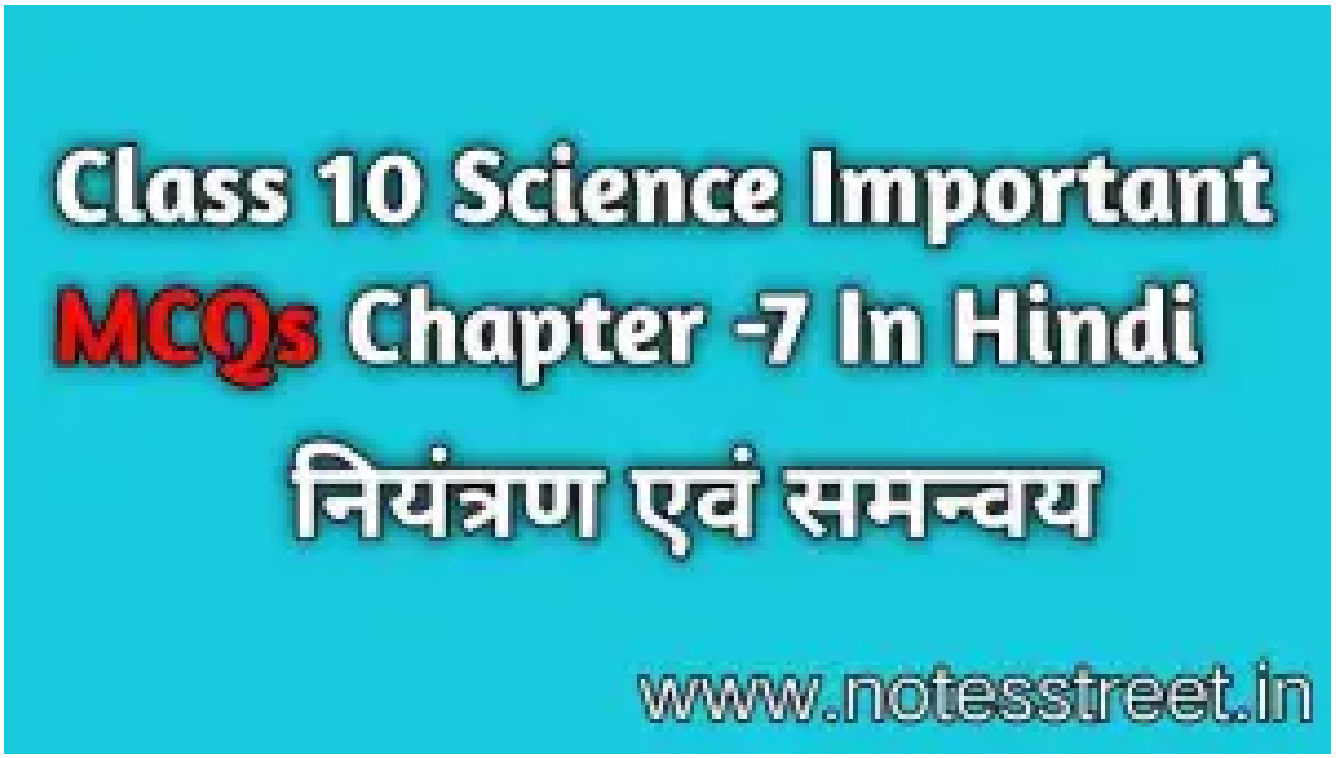

Class 10 Science Important MCQs Chapter – 7 नियंत्रण एवं समन्वय

August 16, 2020